令和６年度佐賀県公立学校教員採用選考試験

専門試験Ⅰ　問題

中学校教諭等　社　　会

解答は，すべて別紙解答用紙に書きなさい。

1　次の文は，『中学校学習指導要領　第２節　社会』（平成29年３月告示）「第２　各分野の目標及び内容」の〔地理的分野〕の一部である。【①】～【⑤】にあてはまる語句をそれぞれ答えなさい。

> 1　目標
>
> 社会的事象の地理的な見方・考え方を働かせ，　～（中略）～　資質・能力の基礎を次のとおり育成することを目指す。
>
> (1)　（中略）
>
> (2)　地理に関わる事象の意味や意義，特色や相互の関連を，【①】や分布，場所，人間と自然環境との相互依存関係，【②】相互依存作用，地域などに着目して，多面的・多角的に考察したり，地理的な課題の解決に向けて【③】に選択・判断したりする力，思考・判断したことを【④】したり，それらを基に【⑤】したりする力を養う。
>
> (3)　（後略）

2　写真や資料を見て，下の(1)～(11)の各問いに答えなさい。

【写真】海が多く見える向きから見た地球

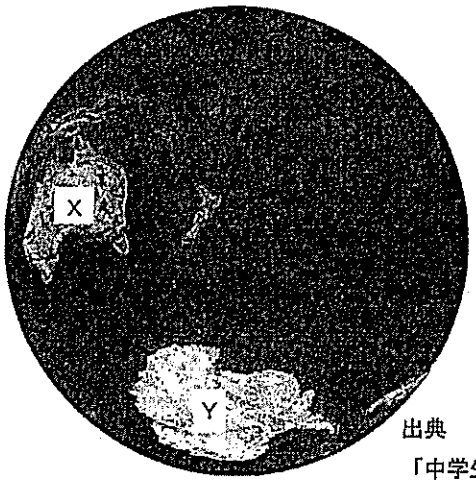

出典「中学生の地理」（帝国書院）

【資料１】地球儀と地図との関係

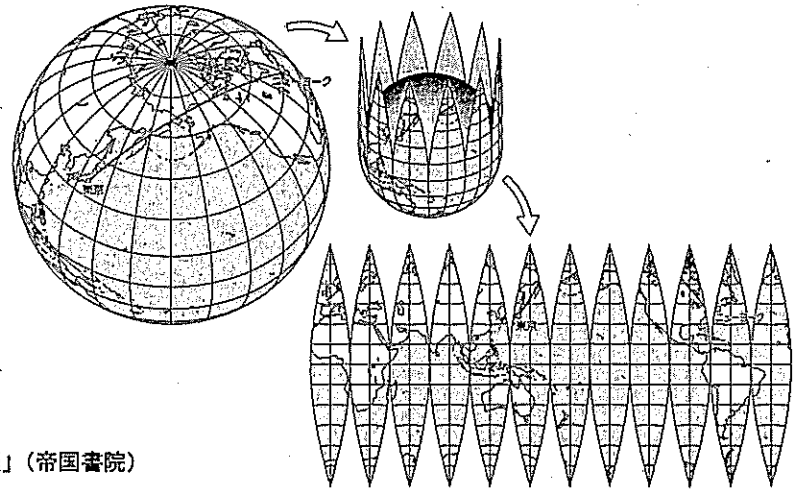

出典「中学生の地理」（帝国書院）

(1)　【写真】のＸ・Ｙの大陸を何というか，それぞれ答えよ。

(2)　【資料１】を見て，距離，面積，方位，形などを，１つの世界地図にすべて正しく表すことができないのはなぜか。その理由を簡潔に説明せよ。

(3)　【地図１】のＺの地点の緯度と経度を答えよ。

(4)　【地図１】を参考に，日本と同じ緯度の範囲にあると考えられるヨーロッパ州にある国の組み合わせとして最も適切なものを，次のア～エから１つ選び，記号で答えよ。

ア	スペイン	バチカン市国	モナコ	ギリシャ
イ	ブルガリア	ベラルーシ	イタリア	ベルギー
ウ	ギリシャ	イギリス	オランダ	ウクライナ
エ	ポルトガル	ブルガリア	アルバニア	エストニア

【地図１】世界の略地図

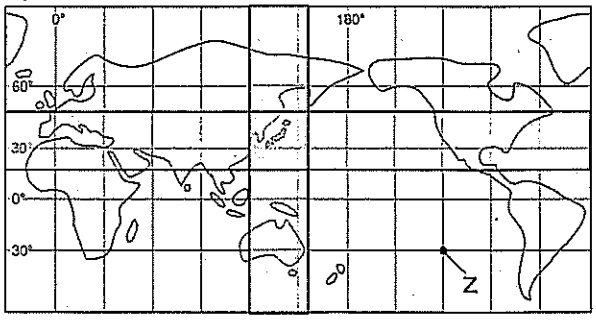

解答は，すべて別紙解答用紙に書きなさい。

(5)　次の【資料２】は，東京（羽田）とパリ（シャルル・ド・ゴール）を往復する航空機の発着時刻（時刻はそれぞれ現地時刻）を示したものである。往路と復路で飛行時間に差が出るのはなぜか。その理由を簡潔に説明せよ。ただし，東京とパリの時差はサマータイム期間のため７時間とする。（ただし，同機種で同じ航路を飛行するものとする。）

【資料２】東京ーパリ間の運行状況（６月）

東京発	パリ着	パリ発	東京着
００：０５	０７：５５	２２：００	１８：３０（翌日）
１４時間５０分（往路）		１３時間３０分（復路）	

出典
エールフランス公式サイトより作成

(6)　ケッペンの気候区分で赤道付近にみられる熱帯の地域では，年中高温という共通する特徴がある一方，【資料３】と【資料４】のように異なる特徴をもつ植生が見られる地域もある。【資料５】は，【資料４】のような特徴が見られる雨温図の例である。【資料４】のような特徴が見られる理由として考えられることを，下のようにまとめた。文中の（　　）にあてはまる内容を簡潔に説明せよ。

【資料３】熱帯雨林気候（Af）の植生



熱帯雨林気候（Af）
【特徴】
緑の葉で背の高い木が多く，１年中，うっそうとした森林（熱帯林・密林）が広がっている。

【資料４】サバナ気候（Aw）の植生



サバナ気候（Aw）
【特徴】
背の低い木がまばらに生えていて，時期によって，緑の草原が広がっているときと枯れた草原が広がっているときがある。

出典　「中学生の地理」（帝国書院）

【資料５】
サバナ気候の特徴が見られる雨温図

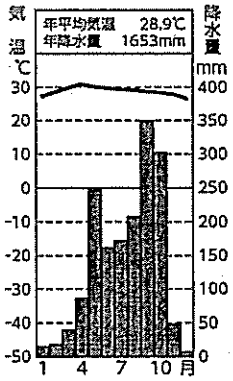

出典　「中学生の地理」（帝国書院）
〈理科年表　2020 年，ほか〉

まとめ

（　　）ため，【資料４】のような特徴がみられる。

(7)　ケッペンの気候区分で温帯に属する地中海性気候（Cs）では，地中海式農業が行われている。地中海性気候のイタリアでは，オリーブ油を使った料理が食べられ，ぶどう酒（ワイン）もよく飲まれている。オリーブやぶどうなどの果樹の栽培に適している理由として考えられることを【資料６】を参考に「地中海性気候は，」に続けて簡潔に説明せよ。

【資料６】
地中海性気候の特徴が見られる雨温図

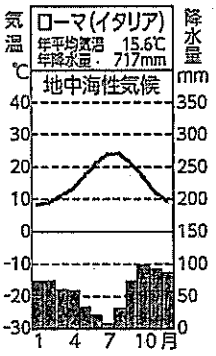

出典　「中学生の地理」（帝国書院）
〈理科年表　2019 年，ほか〉

解答は，すべて別紙解答用紙に書きなさい。

(8)　次の【地図２】は世界の主な食べ物を示したものである。地図中のＡ～Ｄにあてはまる食べ物の組み合わせとして最も適切なものを，下のア～エから１つ選び，記号で答えよ。

【地図２】世界の主な食べ物

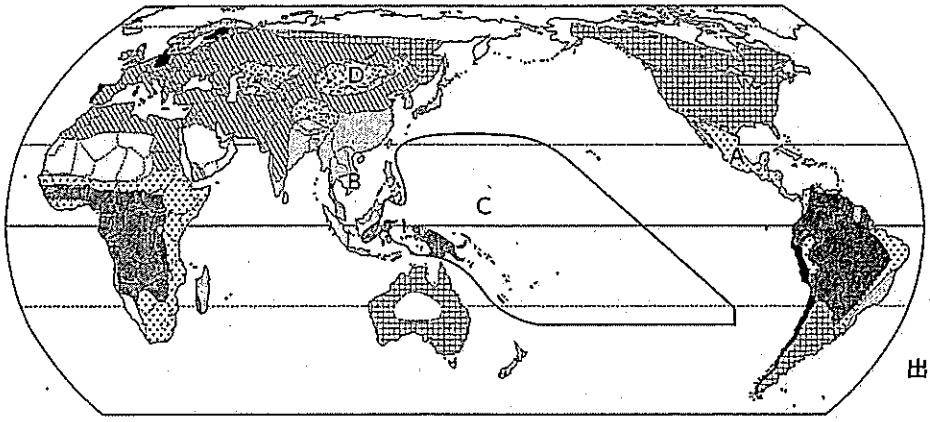

出典　「中学生の地理」（帝国書院）より一部改

ア	Ａ　とうもろこし	Ｂ　米	Ｃ　いも類	Ｄ　肉・乳製品
イ	Ａ　肉・乳製品	Ｂ　とうもろこし	Ｃ　小麦	Ｄ　米
ウ	Ａ　小麦	Ｂ　米	Ｃ　肉・乳製品	Ｄ　いも類
エ	Ａ　とうもろこし	Ｂ　肉・乳製品	Ｃ　米	Ｄ　小麦

(9)　次の文は，『中学校学習指導要領　第２節　社会』（平成 29 年３月告示）の「第２　各分野の目標及び内容」の〔地理的分野〕の「Ａ　世界と日本の地域構成」における内容の取扱いの一部である。【①】・【②】にあてはまる語句をそれぞれ答えよ。

> 「領域の範囲や変化とその特色」については，我が国の海洋国家としての特色を取り上げるとともに，【①】や北方領土が我が国の固有の領土であることなど，我が国の領域をめぐる問題も取り上げるようにすること。その際，【②】については我が国の固有の領土であり，領土問題は存在しないことも扱うこと。

(10)　各国が守るべき国と国との間の関係を定めた法には，文章になっている条約や規約などのほかに慣習・合意も含まれる。このような法を何というか，答えよ。

(11)　下の文は，【資料７】についての説明文である。文中の（　）にあてはまる語句を漢字で書きなさい。ただし，文中の（　）には同じ語句が入る。

【資料７】

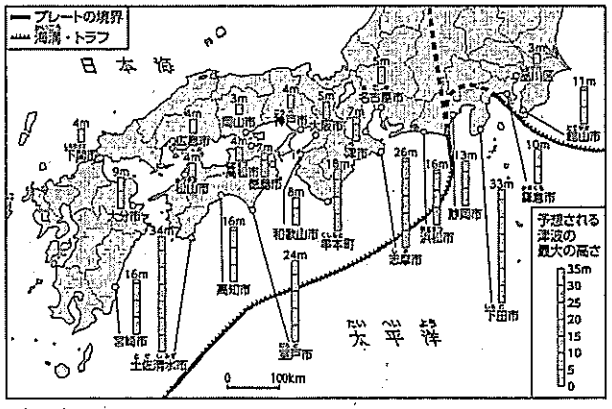

出典　「中学生の地理」（帝国書院）より一部改

説明文

> 【資料７】は，（　）トラフの巨大地震が起きた際に発生すると想定されている津波の高さを示したものである。近い将来に地震の発生が予測されている静岡県から高知県にかけての太平洋沖にのびる水深 4000mほどの深い溝のことを特に（　）トラフと呼んでいる。

解答は，すべて別紙解答用紙に書きなさい。

3　南アメリカ州について学習している先生と生徒の会話文を読み，下の(1)～(5)の各問いに答えなさい。

【会話文】

生　徒：先生，【資料８】のブラジルやアルゼンチンの人種・民族構成を見ると，ほとんどが【 ① 】系となっています。

先　生：なぜ，そのような民族構成になっているのかな。

生　徒：う～ん。これはアフリカ州を学習した時と同じように16世紀に【 ① 】の人々が進出したからですか。

先　生：その通りです。以前学習したことを活用できましたね。では，【 ① 】の人々は進出し，南アメリカ州にいた先住民の文明を滅ぼして，この地に何をつくったのかな。

生　徒：【 ② 】です。その影響もあって，ブラジルでは主に【 ③ 】が話されたり，それ以外の多くの国では【 ④ 】が話されたりとラテン系民族の割合が高くなっており，キリスト教の【 ⑤ 】が信仰されていることが分かりました。また，【 ② 】 時代にはａ大きな農場や鉱山で，アフリカから連れてこられた奴隷が厳しい環境で働かされていたことが分かりました。

先　生：現在ではｂ産業の発展，ｃ開発が進み，人々の生活水準も高くなりましたが，地域による経済格差が見られます。

【資料８】主な言語と人種・民族構成

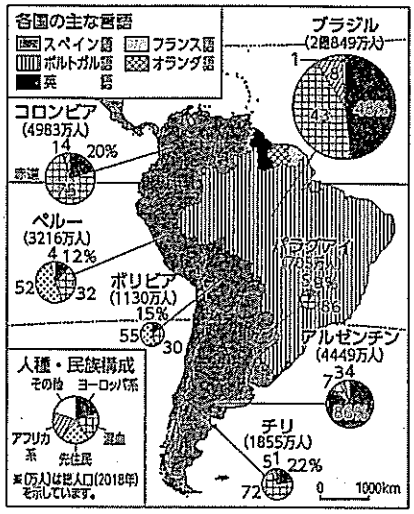

出典　「中学生の地理」（帝国書院）

【資料９】ブラジルの輸出品の変化

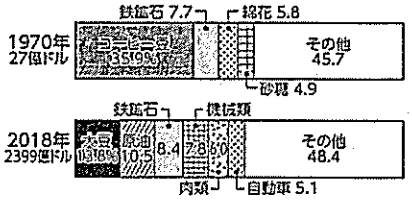

【資料 10】アマゾン川流域の熱帯林の伐採

【資料 11】ブラジルの熱帯林の開発

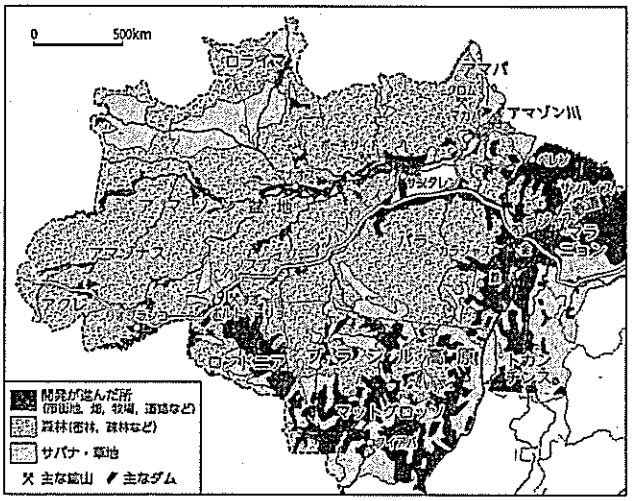

【資料９・10・11】出典「中学生の地理」（帝国書院）

(1)　【会話文】の【 ① 】～【 ⑤ 】にあてはまる語句をそれぞれ答えよ。

(2)　【会話文】の下線部ａのように熱帯の地域で輸出向けの作物を大量に生産する大農園をカタカナで何というか，答えよ。

(3)　【会話文】の下線部ｂについて，【資料９】の2018年のようにブラジルの主要な輸出品となった大豆などは，農業に関連することを専門に扱うアメリカ合衆国などの穀物メジャーに大量に買い付けられている。穀物メジャーが行う気象や作付けの情報提供，農産物の生産から加工，開発，流通，販売などにわたる農業関連産業の総称をカタカナで何というか，答えよ。

(4)　南アメリカで関税撤廃や財・サービスなどの自由な流通などを目的に，発足した地域機構を何というか，答えよ。

(5)　【会話文】の下線部ｃについて，「農地や鉱山の開発が進むことによって，地域にどのような影響が生じているのか。」という問いを設定して調べていると，【資料 10】【資料 11】を見つけた。開発により実際にもたらされている地域への影響について【資料 10】【資料 11】を参考に，「資源」「道路」「熱帯林」の３つの語句を使って説明せよ。

解答は，すべて別紙解答用紙に書きなさい。

4　太郎さんは日本の諸地域の学習で，環境保全を視点に近畿地方について調べた。下の(1)～(9)の各問いに答えなさい。

【地図３】

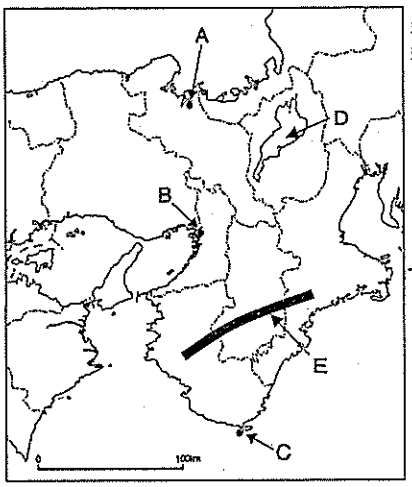

【資料 12】近畿地方の主な都市の雨温図

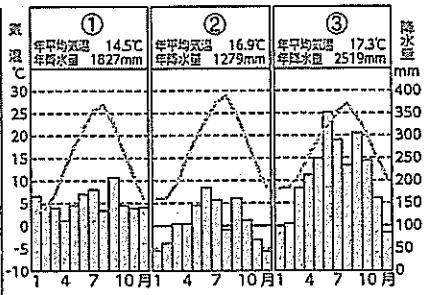

出典　「中学生の地理」（帝国書院）
〈理科年表　2019 年，ほか〉

【資料 13】大阪府の工業用水の水源



出典　「中学生の地理」（帝国書院）

(1)　【地図３】のＡ～Ｃの都市の雨温図はどれか，【資料 12】の①～③からそれぞれ選び，番号で答えよ。

(2)　(1)でＡの都市の雨温図を選んだ理由を，「季節風の向き」と「降水量」に着目して，説明せよ。

(3)　京阪神大都市圏の水源の役割を果たしている【地図３】のＤの名称を漢字で答えよ。

【資料 14】予定地面の高さにつくられたマンホール（1953 年）



出典　「地理資料集」（新学社）

(4)　【資料 13】は，大阪府の工業用水の水源の変化を示している。工場が集中する大阪で，リサイクル水を利用するなどして工業用水の再生利用に取り組んでいることが分かるが，なぜ，このような水源の変化が起こったのか。その原因を【資料 14】を踏まえて，簡潔に説明せよ。

(5)　大阪は，江戸時代に諸藩が蔵屋敷を設けたため，全国から物資が集散して，経済（商業）の中心地として栄えたことから当時，何とよばれていたか，答えよ。

(6)　大阪府には，水彩絵の具，自転車部品，まほうびん，ボルト・ナットなど特色のあるものを生産している製造業が多いが，製造業で，資本金が３億円以下，または従業員数が 300 人以下の町工場を何というか，答えよ。

(7)　京都府では，【資料 15】のように電柱の撤去，電線の地中化が進んでいる。また，コンビニエンスストアやチェーン店など他の都道府県と外壁の色や看板の高さなどが異なるお店も多く見られる。その理由として考えられることを次のようにまとめた。文中の（　　）にあてはまる語句を漢字２字で答えよ。

まとめ

周囲の（　　）的な街並みや自然景観と調和するように建物の形や色を工夫しているため。

【資料 15】2005 年（左）と 2020 年（右）の二年坂の様子



出典　「中学生の地理」（帝国書院）

(8)　京都府と同じように古代の政治の中心であった「古都」が存在した県を答えよ。

(9)　【地図３】のＥの付近にある熊野古道・大日越は，霊場と参詣道として世界遺産に登録されている。また，Ｅの付近では豊かな森林が広がり，林業が盛んな地域でもある。Ｅの山地を何というか，答えよ。

解答は，すべて別紙解答用紙に書きなさい。

5　次の文は，『中学校学習指導要領　第２節　社会』（平成29年３月告示）の「第２　各分野の目標及び内容」の〔歴史的分野〕に書かれている文の一部である。下の(1)～(4)の各問いに答えなさい。

A　歴史との対話
(1)　私たちと歴史
（中略）
ア　次のような知識及び技能を身に付けること。
（ア）年代の表し方やA時代区分の意味や意義についての基本的な内容を理解すること。
（イ）資料から歴史に関わる情報を読み取ったり，年表などにまとめたりするなどの技能を身に付けること。
イ　次のような思考力，判断力，表現力等を身に付けること。
（ア）時期や年代，（　B　），現在の私たちとのつながりなどに着目して，小学校での学習を踏まえて歴史上の人物や文化財，出来事などから適切なものを取り上げ，時代区分との関わりなどについて考察し表現すること。・・・・・C
(2)　身近な地域の歴史
（中略）
ア　次のような知識及び技能を身に付けること。
（ア）自らが生活する地域や受け継がれてきた伝統や文化への関心をもって，具体的な事柄との関わりの中で，地域の歴史について調べたり，収集した情報を年表などにまとめたりするなどの技能を身に付けること。
イ　次のような思考力，判断力，表現力等を身に付けること。
（ア）比較や関連，時代的な背景や地域的な環境，歴史と私たちとのつながりなどに着目して，地域に残る文化財や諸資料を活用して，身近な地域の歴史的な特徴を多面的・多角的に考察し，表現すること。・・・・・・・・・・・・・D

(1)　下線部Aに関して，次の①・②の各問いに答えよ。
①　日本で用いられている時代区分には，【資料16】のように，奈良時代・平安時代といった政治の中心地による区分や，明治時代・大正時代といった元号による区分などがある。【資料16】中の（　ア　）にあてはまる語句を答えよ。

②　【資料16】中に，近代・現代のような社会の仕組みによる区分が示されている。日本における中世とは，鎌倉時代（または平安時代末期）から戦国時代までを指す。中世社会の仕組みとはどのようなものか。次の近代について説明した【例】を参考にして，中学校で学習する内容を基に説明せよ。

【例】日本における近代社会は，天皇の名の下に政府が直接全国を治める仕組みがとられた。明治政府は全国各地に官営工場を建設して殖産興業を進めたが，やがて政府と強く結び付いた財閥が日本の産業革命を牽引するようになった。財閥の発展に伴い，資本家が労働者を雇い利潤の拡大を目指す資本主義の仕組みが形成された。

(2)　文中の（　B　）にあてはまる語句として正しいものを，次のア～エから１つ選び，記号で答えよ。
ア　転換　　イ　変換　　ウ　推移　　エ　進化

(3)　Cの事項に関して，中学校歴史学習の導入に当たり，「あなたが考える『歴史を大きく変えた人物』は誰か」という問いを生徒に提示し，小学校で学習した人物のうち一人を選び調査活動を行い，その人物を選んだ理由を文章にまとめる活動を設定したと仮定する。さらに，まとめる際の条件として，「その人物が生きた時代の様子」と「その人物が行ったこと」を関連付け，その時代にどのような影響を与えたのかを書くこととする。
授業者として，事前に，条件を満たすモデル文を作成し，生徒に提示したい。
「聖徳太子」を例にした条件を満たすモデル文を，解答欄の形式に従って作成せよ。

【資料16】日本の時代区分

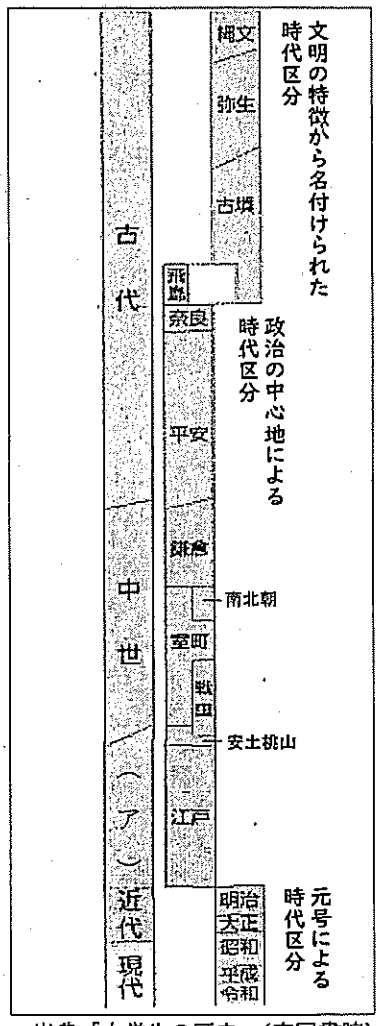

出典「中学生の歴史」（帝国書院）

解答は，すべて別紙解答用紙に書きなさい。

(4)　Dの事項に関して，次の①～③の各問いに答えよ。

①　「地域に残る文化財」の一つとして，現在の佐賀県基山町に基肄城跡がある。７世紀後半，中大兄皇子は，基肄城や大野城を始めとする山城を西日本各地に築き，唐や新羅の攻撃に備えたとされている。これらの山城を築くきっかけとなった，７世紀半ばに日本が唐・新羅連合軍と戦い敗れた戦を答えよ。

②　豊臣秀吉は，当時の中国を従えようとし，中国に従っていた朝鮮に二度に渡って大軍を送り込んだ。この出兵の拠点となった佐賀県の城を答えよ。

③　【資料17】は，明治維新時の新政府の仕組みであり，大隈重信らを輩出した肥前・薩摩・長州・土佐藩の出身者や公家がその要職を占めていることを表している。これは，これらの藩が幕末における雄藩であったことに起因する。

肥前藩は，現在の佐賀県と長崎県の一部にあった藩で，江戸時代は鍋島氏が藩主であった。肥前藩が雄藩の一つとなり得た背景として誤っているものを，次のア～エから１つ選び，記号で答えよ。

【資料17】藩閥政府



出典「中学歴史」（山川出版社）

ア　専売制を導入し，有田焼などの国内外に需要のある陶磁器を売るなどして，逼迫していた財政を立て直した
イ　鎖国体制下の中で幕府より長崎警備の命を受け，長崎港を通して海外の最新情報や技術を取り入れた
ウ　教育に力を入れ，藩校の明倫館で学ぶ子弟たちを積極的に藩外に留学させるなどして，人材育成に取り組んだ
エ　西洋技術に明るい人材を登用し，日本初の反射炉を築いて大砲を鋳造したり，実用蒸気船を建造したりした

6　19世紀半ばまでの日本の出来事に関する資料や文を読んで，次の(1)～(5)の各問いに答えなさい。

(1)　奈良時代と平安時代中期の税に関する【資料18】・【資料19】を読み，次頁の①～③の各問いに答えよ。

【資料18】奈良時代の税の納入の記録

平城京跡から出土した木簡
（奈良文化財研究所蔵）

各地方からもたらされる特産物を，役人が木簡に記録した。

出典「中学生の歴史」（帝国書院）

【資料19】平安時代中期の国司の暴政

「尾張国郡司百姓等解」

尾張国の国司藤原元命が，この３年間に行った不法な税の取り立てと乱暴について，次の31件のことを裁いてくださるよう，尾張国の郡司・民衆が太政官にお願い申し上げます。

一　定まった税のほか，この３年間で，さらに税12万9374束※あまりを取り立てたこと。

一　元命の配下の者たちが，郡司や民衆から無理やりいろいろな物をうばい取っていること。　（部分要約）

束※…稲を数える単位。

出典「新しい社会歴史」（東京書籍）

解答は，すべて別紙解答用紙に書きなさい。

① 【資料18】は，税を都まで運んで納めたことが記録された木簡である。律令制度の税制の中心の一つであり，各地の特産物を朝廷へ納める税を答えよ。

② 【資料19】は，地方行政に携わった国司の暴政を訴えて朝廷に提出されたものの一部である。これは，10世紀以降，国司に朝廷への一定額の税納入と引きかえに一国の統治を認めたことが背景にある。藤原元命のように，徴税や地方支配の権限が大きく与えられた現地に赴く最上席の国司として正しいものを，次のア～エから１つ選び，記号で答えよ。

ア　遥任　　イ　田堵　　ウ　目代　　エ　受領

③ 10世紀以降，開発領主はその所領を貴族や寺社に寄進するようになった。荘園領主となった貴族や寺社に認められた，税を免除される権利を答えよ。

(2) 鎌倉時代に関する【資料20】について，次の①・②の各問いに答えよ。

① 執権北条義時追討の命令を出し，幕府を倒そうとした朝廷側の中心人物を答えよ。

② 承久の乱後，幕府がどのように変化したかを，【資料20】を生徒に読み取らせて説明させたい。

下の【例】を参考に，読み取って説明させるまでの教師の具体的な発問と予想される生徒の反応の流れを答えよ。

ただし，「承久の乱後に新たに地頭が任命された土地のある国がどこに多く分布しているか」という教師の発問から始めることとする。

【資料20】承久の乱とその後の動き

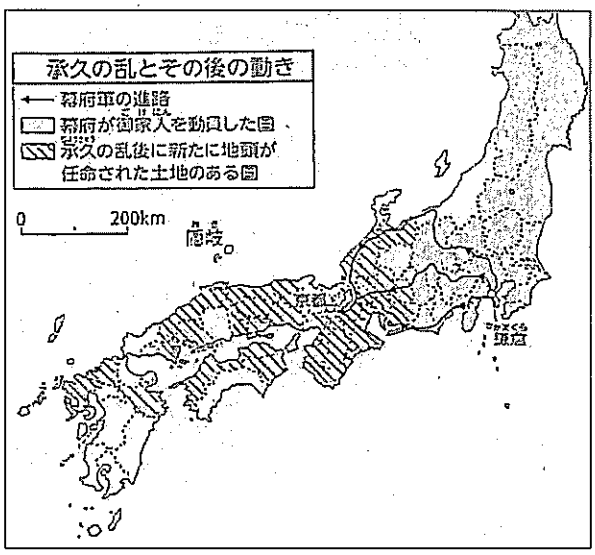

出典「新しい社会歴史」（東京書籍）

【例】「『エジプトはナイルの賜物』と言われる理由」を読み取って説明させるまでの教師の発問と予想される生徒の反応

(教師)「ナイル川付近で何がいつ頃に栽培されているか」

(生徒)…11月頃に大麦・小麦・豆などの種まきを行い３月～６月に収穫している。７月～10月は増水期といい，川の水が氾濫している。

↓

(教師)「ナイル川の氾濫がもたらす利点は何か」

(生徒)…土中の塩分を流すだけでなく，栄養分に富んだ土がナイル川流域に広がり，農業が可能になる。

↓

古代エジプトは，ナイル川の氾濫によって不要な塩分が流され養分が運ばれたことで農業が発達し，高度な文明が発展したから，『エジプトはナイルの賜物』と言われる。

エジプトの農業

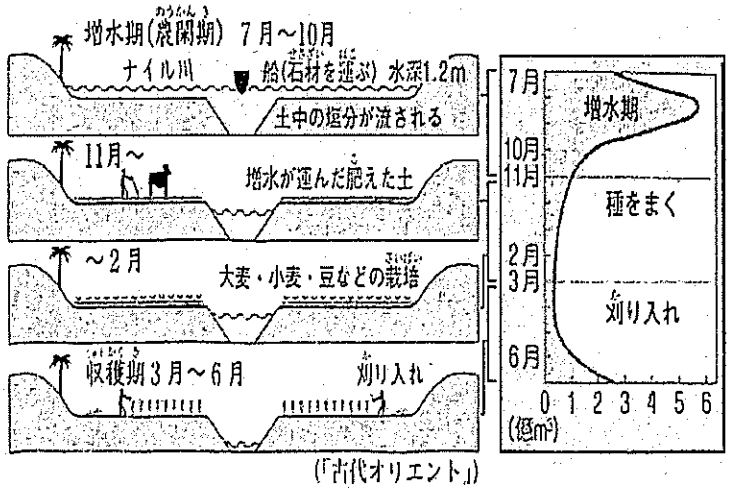

(「古代オリエント」)

出典「よみとき総合歴史」（浜島書店）

解答は，すべて別紙解答用紙に書きなさい。

(3)　室町時代の出来事について，次のア～エの各文の正誤を判定し，正しければ○，誤りなら×と，それぞれ記号で答えよ。
ア　足利尊氏が将軍職を退いた直後に，正長の土一揆が起こった
イ　将軍を補佐する管領は，細川・斯波・畠山の３家が交代で務めた
ウ　守護は，幕府から領国内の荘園年貢の半分を与えられるなどして，その権限を強めた
エ　嘉吉の乱で足利義政が殺されると，将軍の権力が弱まり応仁の乱が起こった

(4)　織田信長とその家臣豊臣秀吉によって行われた天下統一までの過程について，次のア～エの出来事を年代の古い順に並べかえ，記号で答えよ。
ア　山崎の戦いにて明智光秀を滅ぼす
イ　豊臣秀吉が朝廷から関白に任ぜられる
ウ　長篠の戦いにて甲斐国の武田勝頼を破る
エ　足利義昭を将軍として擁立する

(5)　江戸時代の出来事について，次の①～③の各問いに答えよ。
①　武家諸法度は，将軍の代替わりごとに内容の変化が見られる。武家諸法度の内容に関して述べた次のア～ウの文を年代の古い順に並べかえ，記号で答えよ。
ア　第一条の冒頭を「文武弓馬の道」から「文武忠孝を励し」に改めた
イ　大名に参勤交代を義務付けた
ウ　城の修繕や改築について幕府へ許可を得るよう求めた

②　18 世紀に入ると貨幣経済の浸透により社会は大きく変化し，幕府はその変化に対応すべく諸改革を展開した。人足寄場を設けて無宿人を収容したり，旧里帰農令を出して江戸などに出稼ぎで居住する者に村へ帰ることを奨励したりする政策を行った人物を答えよ。

③　幕府が諸改革を進め体制の再建に努めている頃，日本の近海には外国船が現れ，幕府は海防の在り方の検討を迫られるようになった。その頃の日本の様子として最も適切なものを，次のア～エから１つ選び，記号で答えよ。
ア　オランダの軍艦フェートン号が，スペイン船を追いかけて長崎に侵入し食料などを要求してきた
イ　北方調査の必要性を感じた幕府は，近藤重蔵に択捉を探検させ，間宮林蔵に樺太を探検させた
ウ　幕府の対外政策を批判した蘭学者の渡辺崋山や吉田松陰らが，蛮社の獄にて処罰された
エ　ロシアのラクスマンが，漂流民の大黒屋光太夫を伴って知床に来航し幕府に通商を求めた

7　次の文は，『中学校学習指導要領　第２節　社会』（平成 29 年３月告示）の「第２　各分野の目標及び内容」の〔歴史的分野〕に書かれている文の一部である。次頁の(1)～(3)の各問いに答えなさい。

C　近現代の日本と世界
(1)　近代の日本と世界
（中略）
ア　次のような知識を身に付けること。
（ｱ）欧米における近代社会の成立とアジア諸国の動き
（ｲ）明治維新と近代国家の形成
（ｳ）議会政治の始まりと国際社会との関わり
（ｴ）近代産業の発展と近代文化の形成
（ｵ）第一次世界大戦前後の国際情勢と大衆の出現
（ｶ）第二次世界大戦と人類への惨禍
（中略）
(2)　現代の日本と世界
（中略）
ア　次のような知識を身に付けること。
（ｱ）日本の民主化と冷戦下の国際社会
（ｲ）日本の経済の発展とグローバル化する世界

解答は，すべて別紙解答用紙に書きなさい。

(1) Aの事項を単元に設定して指導するに当たり，「日本における立憲制の成立は，当時の国際社会との関わりでどのような意義があったのだろうか」という単元を貫く問いを設定したと仮定する。次の①～③の各問いに答えよ。

① 幕末期の日本には，攘夷論が高まりを見せていた。その頃の日本の様子として最も適切なものを，次のア～エから１つ選び，記号で答えよ。

ア　老中阿部正弘は，幕府の独断で日米修好通商条約を締結した
イ　大老井伊直弼は，坂下門外で水戸浪士らに暗殺された
ウ　孝明天皇の妹和宮が徳川慶喜に嫁いだことは，攘夷派を刺激した
エ　貿易相手国としてはイギリスが１位を占め，日本は生糸や茶などを輸出した

② 19世紀後半，西郷隆盛らが主張した，清に服属し鎖国政策をとっていた朝鮮に対し武力で開国を迫るという考えを答えよ。

③ 単元末に，単元を貫く問い「日本における立憲制の成立は，当時の国際社会との関わりでどのような意義があったのだろうか」について，生徒に文章でまとめさせたい。授業者として，中学校での学習内容を踏まえた模範解答を作成せよ。
ただし，Aの学習内容の一つである「欧米における近代社会の成立とアジア諸国の動き」に関する内容について，必ず触れることとする。なお，字数に制限は設けない。

(2) Bの事項に関して，詳細が次のように示されている。これについて，下の①・②の各問いに答えよ。

(オ) 第一次世界大戦前後の国際情勢と大衆の出現
第一次世界大戦の背景とその影響，民族運動の高まりと国際協調の動き，我が国の国民の政治的自覚の高まりと文化の大衆化などを基に，a第一次世界大戦前後の国際情勢及び我が国の動きと，大戦後に世界平和への努力がなされたことを理解すること。
(カ) 第二次世界大戦と人類の惨禍
経済の世界的な混乱と社会問題の発生，b昭和初期から第二次世界大戦の終結までの我が国の政治・外交の動き，中国などアジア諸国との関係，欧米諸国の動き，戦時下の国民の生活などを基に，軍部の台頭から戦争までの経過と，大戦が人類全体に惨禍を及ぼしたことを理解すること。

① 下線部aに関する出来事を示した次のア～エを，年代の古い順に並べかえ，記号で答えよ。

ア　ワシントン会議が開かれる
イ　治安維持法が制定される
ウ　ロンドン海軍軍縮会議が開かれる
エ　中国で五・四運動が起こる

② 下線部bに関して，陸軍皇道派の青年将校らが高橋是清ら政府要人を暗殺し，軍部の政治への発言力が増すことにつながった出来事を答えよ。

(3) Cの事項では，日本の民主化が進められ国際社会へ復帰する過程や国際社会との関係に関する学習が示されている。次の①・②の各問いに答えよ。

① 日本が国際社会へ復帰する過程を示した次のア～エを，年代の古い順に並べかえ，記号で答えよ。

ア　日ソ共同宣言に調印する
イ　沖縄が日本に返還される
ウ　池田勇人内閣が「所得倍増」を掲げ，岩戸景気が発生する
エ　西側諸国とサンフランシスコ平和条約を結ぶ

② 日本と中国の国交は，田中角栄首相が中国を訪問し，戦争で中国に損害を与えたことに対する反省を表明するとともに，中華人民共和国による政府が中国を代表する政府であることを認めた合意文書が調印されたことにより，回復した。この時調印された合意文書を答えよ。

解答は，すべて別紙解答用紙に書きなさい。

8　次の文は，『中学校学習指導要領　第２節　社会』(平成 29 年３月告示)の「第２　各分野の目標及び内容」の〔公民的分野〕の一部である。【①】～【⑤】にあてはまる語句をそれぞれ答えなさい。

> 1　目標
> 現代社会の見方・考え方を働かせ，【①】を追究したり解決したりする活動を通して，広い視野に立ち，～中略～
> (1)　個人の尊厳と人権の尊重の意義，特に自由・権利と責任・【②】との関係を広い視野から正しく認識し，民主主義，民主政治の意義，国民の生活の向上と経済活動との関わり，現代の社会生活及び国際関係などについて，個人と社会との関わりを中心に理解を深めるとともに，諸資料から現代の社会的事象に関する情報を効果的に調べまとめる技能を身に付けるようにする。
> (2)　～　中略　～
> (3)　現代の【③】について，現代社会に見られる課題の解決を視野に主体的に社会に関わろうとする態度を養うとともに，多面的・多角的な考察や深い理解を通して涵養される，【④】を担う【⑤】として，自国を愛し，その平和と繁栄を図ることや，各国が相互に主権を尊重し，各国民が協力し合うことの大切さについての自覚などを深める。

9　次の文を読んで，下の(1)～(9)の各問いに答えなさい。

> 現在，世界では，人，もの，お金，情報などが国境をこえて容易に移動するようになりａ世界の一体化が進んでいる。その結果，ｂ日本で暮らす外国人が増え，身近な地域でも，様々な文化をもった人々と共生する社会が進展している。貿易においては，ｃそれぞれの国や地域が競争力のある産業に力を入れ，競争力のないものは輸入するようになってきており，日本ではｄ食料自給率の低下が問題となっている。また，日本の文化の中には，世界で受け入れられているものが数多くある。和食などの食文化や，柔道などのスポーツ，漫画やアニメなどはその一例である。ケニア出身の環境活動家でノーベル平和賞を受賞したワンガリ・マータイさんにより（　あ　）という日本人の価値観を表す言葉が世界に広く紹介され，ｅ環境保護の視点から高く評価された。

(1)　文中の下線部ａについて，このことを何というか，答えよ。

(2)　文中の下線部ｂについて，次の①・②の各問いに答えよ。

①　下線部ｂのように生活していくことを何というか，漢字で答えよ。

②　【資料 21】と【資料 22】から，大阪市生野区の外国人人口割合の変化の特徴を，年齢層に着目して，説明せよ。

【資料 21】外国人人口割合が高い市区町村（2015 年，2020 年）

順位	市区町村	総人口に占める外国人人口の変化割合(%)		割合の差
		2015 年	2020 年	(2015 年から 2020 年)
	全　国	１．５	２．２	０．７
１	大阪府　大阪市生野区	１３．４	２１．８	８．４
２	長野県　川上村	１５．８	１９．０	３．２
３	群馬県　大泉町	１４．７	１８．４	３．７
４	長野県　南牧村	１２．６	１４．０	１．４
５	大阪府　大阪市浪速区	１０．６	１２．４	１．８

出典　「令和２年国勢調査　人口等基本集計結果からみる我が国の外国人人口の状況－」総務省（一部改）

【資料 22】日本人及び外国人の別人口ピラミッド（大阪府大阪市生野区）

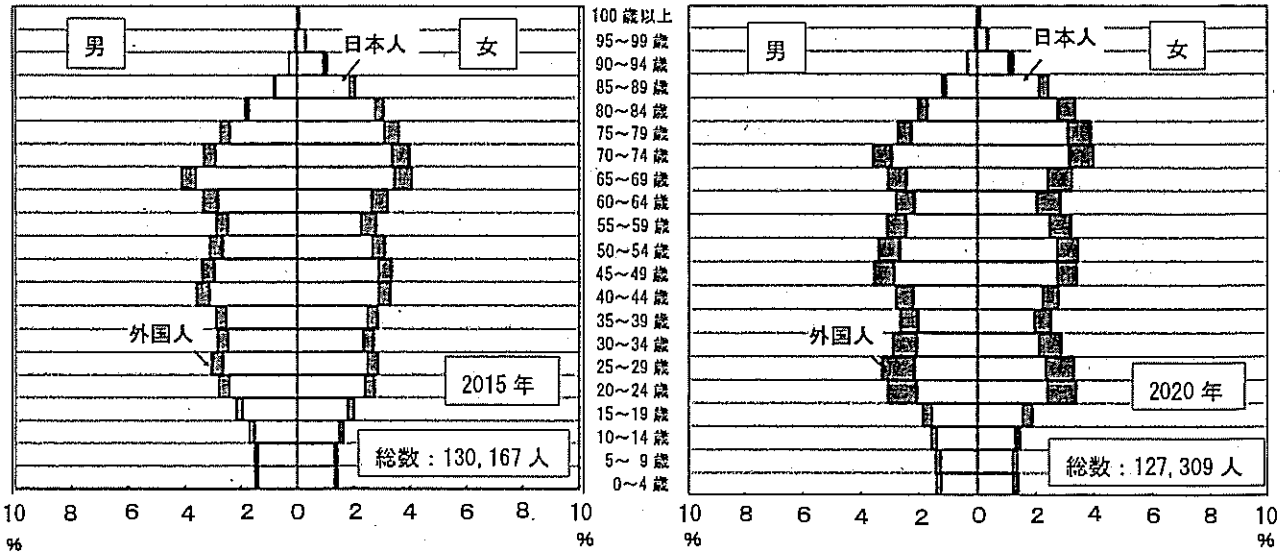

出典　社会実情データ図録 HP「外国人が目立っている市町村の人口ピラミッド」（一部改）

解答は，すべて別紙解答用紙に書きなさい。

(3)　下線部ｃについて，次の①・②の各問いに答えよ。
　①　下線部ｃのようなことを何というか，答えよ。
　②　①のメリットを簡潔に説明せよ。

(4)　下線部ｄについて，右の【資料 23】中のＡ～Ｃはそれぞれ何の品目を表しているか。語群からそれぞれ選び，答えよ。

語群
［　米　　小麦　　肉類　］

【資料 23】日本の品目別自給率の推移

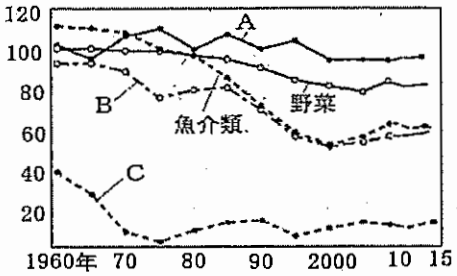

出典「新しい社会　公民」（東京書籍）

(5)　食料自給率の低下によって生じる可能性がある課題として，最も適切なものを，ア～エから１つ選び，記号で答えよ。
　ア　食料の輸入が増加すると，国内産の食品の価格が上昇し，物価上昇につながる傾向がある
　イ　輸入相手国とのトラブルや不作になると，食料が輸入できなくなってしまい，食料不足が起こる恐れがある
　ウ　日本国内の農業が発展し，農業生産額が増加し，第１次産業従事者が増え，工業生産額が減少する可能性がある
　エ　外国産の食料に対して関税を引き下げて，国内産の食品の消費を増やそうとするため，貿易摩擦が起こる恐れがある

(6)　文中の（　あ　）にあてはまる語句を答えよ。

(7)　下線部ｅについて，1993 年に制定された日本の環境政策の根幹を定める法律を何というか，漢字で答えよ。

(8)　(7)の法律に基づく政策，法整備のもと日本のリサイクル率は上昇する傾向が見られたが，諸外国と比較すると未だに低い水準にある。【資料 24】と【資料 25】から，その理由を考察し，文章で答えよ。

【資料 24】日本と EU 加盟国におけるごみのリサイクル率（%）



【資料 25】日本と EU 加盟国におけるごみの焼却処理率および埋立処分率（%）

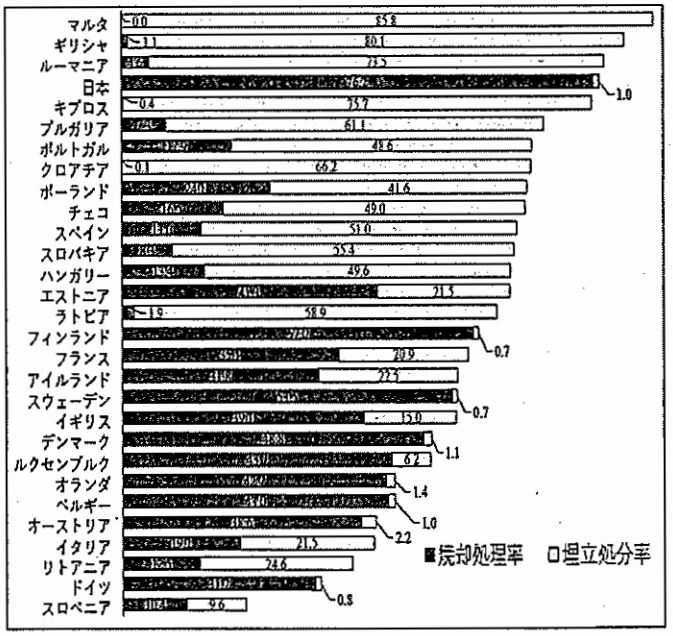

※アイルランド、ギリシャ、キプロスは 2017 年の値、それ以外の国は 2018 年の値　　【資料 24・25】出典　国立環境研究所 HP

(9)　環境や社会，人に配慮した商品を選んで消費することを何というか，答えよ。

解答は，すべて別紙解答用紙に書きなさい。

10　次の(1)～(7)の各問いに答えなさい。

(1)　【資料 26】のア，イは，佐賀県の市町別年齢（３区分）別人口割合のうち，生産年齢人口割合と老年人口割合のいずれかを表した地図である。生産年齢人口割合を表すものはどちらか，記号で答えよ。

【資料 26】市町別　年齢（３区分）別人口割合（令和２年）

ア

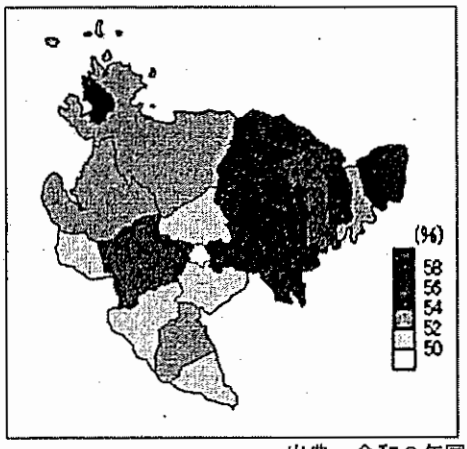

イ

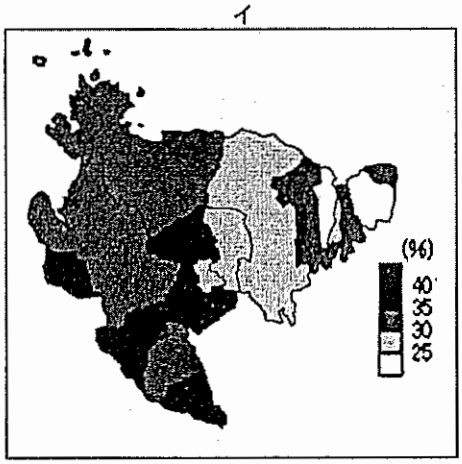

出典　令和２年国勢調査 人口等基本集計結果 佐賀県の概要

(2)　岸田文雄首相が打ち出した「異次元の少子化対策」について，その内容にあてはまるものを，次のア～エから１つ選び，記号で答えよ。

ア　幼児教育・保育の無償化　　イ　児童手当の所得制限の撤廃　　ウ　エンゼルプランの策定　　エ　こども家庭庁の発足

(3)　時代の変化とともに，日本の家族類型別世帯数にも変化がみられる。右の【資料 27】を説明した文のうち，最も適切なものを，次のア～エから１つ選び，記号で答えよ。

ア　核家族世帯の割合は増加し続けている
イ　単独世帯数のみ増加している
ウ　核家族世帯数と単独世帯数が増加している
エ　その他の親族世帯数は変わらない

【資料 27】家族類型別世帯数の変化



出典　「新しい社会　公民」（東京書籍）より一部改

(4)　(1)～(3)のような現状は，日本の社会保障制度についても大きな影響を与えている。日本の社会保障制度について示した【資料 28】のア～エに当てはまる語句を，それぞれ答えよ。

【資料 28】　日本の社会保障制度

種類	仕事の内容
ア	医療保険　介護保険　年金保険　雇用保険　労災保険
イ	生活保護（生活扶助　住宅扶助　教育扶助　医療扶助など）
ウ	高齢者福祉　児童福祉　障害者福祉　母子・父子・寡婦福祉
エ	感染症対策　上下水道整備　廃棄物処理　公害対策など

(5)　日本国憲法第 25 条で示された生存権を保障するため，日本の社会保障制度は整備されている。日本国憲法 25 条の第１項の条文を，「すべて国民は，」に続けて，正しく答えよ。

(6)　社会保障給付費の財源確保のため，2000 年以降に対象年齢以上の国民に加入が義務付けられた制度を，２つ答えよ。

解答は，すべて別紙解答用紙に書きなさい。

(7)　【資料 29】について，次の①・②の各問いに答えよ。

①　【資料 29】のように，社会保障給付額は増え続けている。財源確保のため，(6)のほかにも，2019 年 10 月に実施されたことは何か，答えよ。

②　①を実施する際，課題になると考えられることを【資料 30】から考察し，文章で答えよ。

【資料 29】社会保障給付額の推移

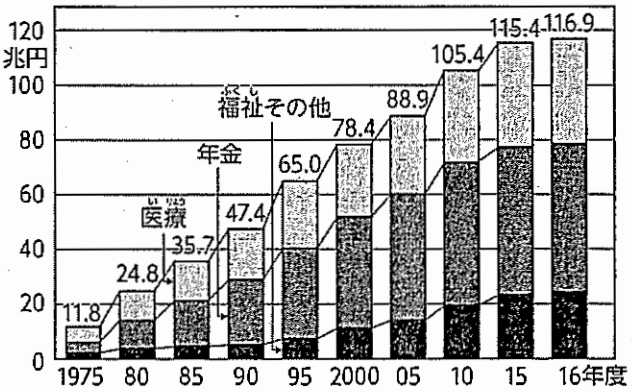

出典　「新しい社会　公民」　(東京書籍)

【資料 30】経済成長率の推移

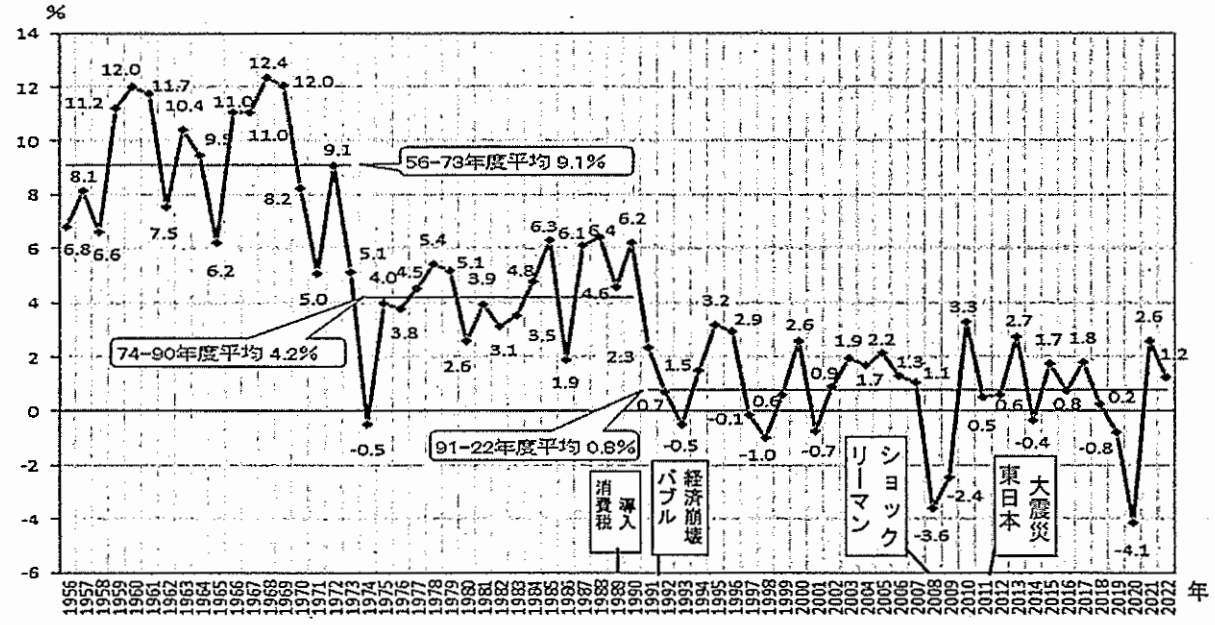

出典　内閣府 SNA サイト（一部改）

11　次の文を読んで，次頁の(1)～(11)の各問いに答えなさい。

国際連盟は，第一次世界大戦後の世界平和実現のために設立されたが，第二次世界大戦の発生を防ぐことはできなかった。国際連盟の失敗を教訓として，設立されたのが国際連合である。1945 年に国際連合憲章が採択され，51 か国で発足し，現在では 193 か国が加盟する組織となっている。国際連合は，毎年９月から開催される（①），A 世界の平和と安全を維持するため強い権限を与えられている安全保障理事会，経済社会理事会など６つの主要機関で構成されている。

国際連合は，国際連盟より強い権限をもち，B 安全保障理事会の決定に基づいて，平和を乱す侵略をした国に制裁を加えることができる。また，国際連合は，全加盟国の負担が義務づけられている C 国連分担金と，各国が政策上の必要に応じて拠出する任意拠出金を財源に活動している。国連分担金は，国際連合の活動を実施するための経費で，その経費の中には，政務，軍縮，国際司法，経済社会開発，人権・人道等の分野において加盟国の決定に基づき国際連合が行う活動を支えるための通常予算分担金と，D（②）活動（PKO）を支えるための PKO 分担金の２種類がある。

解答は，すべて別紙解答用紙に書きなさい。

(1)　文中の(①)・(②)にあてはまる語句を，それぞれ漢字で答えよ。

(2)　文中の下線部Aについて説明した文のうち，最も適切なものを，次のア～エから１つ選び，記号で答えよ。

ア　世界の平和及び安全の維持に責任を負い，加盟国に対し法的拘束力のある決定を行い得る唯一の機関である
イ　常任理事国５か国と，非常任理事国10か国から構成され，ともに２年ごとに改選される
ウ　非常任理事国は，任期２年で，全加盟国による秘密投票により選出され，連続再選も可能である
エ　総会の決定に従う義務があるのと同じく，加盟国はこの会の決定には，必ず従わなければならない

(3)　文中の下線部Bについて，このような考え方や制度を何というか，漢字で答えよ。

(4)　【資料31】を見て，なぜウクライナを侵攻したロシアへの非難決議が採択されないのか，理由を説明せよ。

【資料31】国連安保理　ロシア非難決議の投票

賛成	※米国、※英国、※フランス、アルバニア、ブラジル、ガボン、ガーナ、アイルランド、ケニア、メキシコ、ノルウェー
反対	※ロシア
棄権	※中国、インド、UAE

（※は安保理常任理事国）

出典　西日本新聞　(2022年２月27日)

(5)　文中の下線部Cについて，一部の加盟国は，文中(①)の議決の票数を分担金の額に比例して与えるべきだと主張している。この主張がなされる理由を【資料32】,【資料33】を参考に考察し，説明せよ。

【資料32】国連分担金の多い国トップ10（2020年）



単位：百万ドル　　出典　：国連文書 ST/ADM/SER.B/1008

【資料33】国連加盟国の地域バランスの変化（左1945年，右2002年）

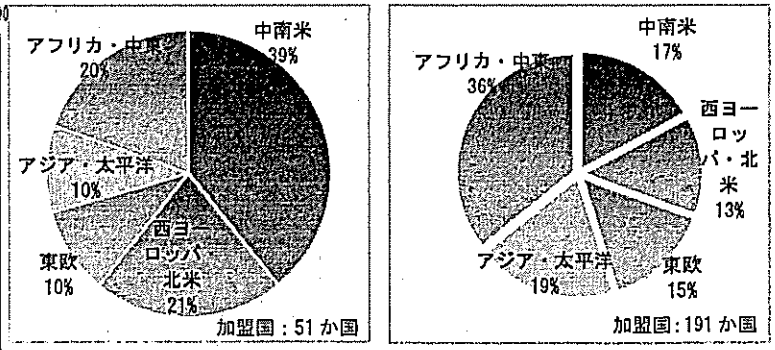

出典　吉田康彦「図解　国連の仕組み」（日本実業出版社）より一部改

(6)　文中の下線部Dについて，日本の協力について説明した文のうち，最も適切なものを，次のア～エから１つ選び，記号で答えよ。

ア　国際平和協力法施行以来，世界各地でのPKOに対し，物的支援，協力のみ行ってきた
イ　国際平和協力法に定める参加五原則により，いかなる場合も武力の行使が認められている
ウ　紛争当事者同士の停戦が合意している場合のみ，参加することができる
エ　平和維持活動への参加の決定は，国会の議決により決定される

解答は，すべて別紙解答用紙に書きなさい。

(7)　近年，国際連合のような大きな枠組みではなく，特定の地域でいくつかの国がまとまり，政治や環境，安全保障の分野などで協力関係を強めようという動きが世界各地でみられる。このような動きを何というか，答えよ。

(8)　(7)について，日本が 2018 年に署名したアジア・太平洋地区の経済関係を強化する取り決めを何というか，答えよ。

(9)　(7)や(8)のような動きがある一方，近年，自国中心の主張も見られる。なぜそのような主張が出てきたのか，【資料 34】と【資料 35】を参考にして，理由を述べよ。

【資料 34】イギリスの EU 離脱を伝える新聞記事

掲載略

出典　日本経済新聞　2016 年 6 月 25 日

【資料 35】英国の移民純増数（出所　英政府）

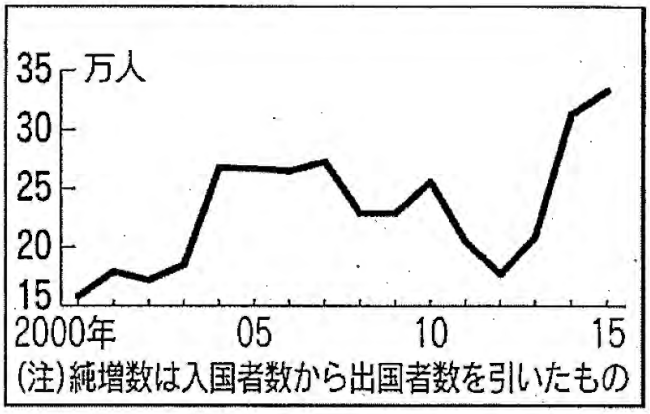

出典　日本経済新聞　2016 年 6 月 22 日（一部改）

(10)　世界では貧困や紛争から多くの人々が難民として周辺国へ逃れる生活を余儀なくされている。こうした問題に対応するための国際連合の機関を何というか，答えよ。

(11)　貧困問題を解決するために，次の説明文のようなことが行われている。説明文の空欄（①）・(②)にあてはまる語句をそれぞれカタカナで答えよ。

説明文

貧困問題を解決するためには，食料などの援助だけではなく，人々の自立を促し，支える取り組みも大切である。近年では途上国産の農産物や製品を公正な価格で取引する（①）や，貧しい人々が事業を始める際に，少額のお金を貸し出す（②）などの事業によって途上国の人たちが収入を得る機会を与える取り組みが盛んになっている。

令和６年度佐賀県公立学校教員採用選考試験
専門試験Ⅰ　解答用紙及び解答例

中学校教諭等　社　会　　受験番号

2	1	①		位置
2		②		空間的
2		③		公正
2		④		説明
2		⑤		議論
1	2	(1)	X	オーストラリア大陸
1			Y	南極大陸
2		(2)		球体である地球を，平面の世界地図にすべてを表すことができないから。
2		(3)		南緯30度　西経120度
2		(4)		ア
2		(5)		偏西風の影響を受けているから。
2		(6)		同じ熱帯でも，降水量が多い時期と少ない時期がある（ため，【資料４】のような特徴がみられる。）
2		(7)		地中海性気候は， 夏に降水量が少なく乾燥する気候のため。
2		(8)		ア
2		(9)	①	竹島
			②	尖閣諸島
2		(10)		国際法
2		(11)		南海
2	3	(1)	①	ヨーロッパ
2			②	植民地
2			③	ポルトガル語
2			④	スペイン語
2			⑤	カトリック

3	(2)			プランテーション	2
	(3)			アグリビジネス	2
	(4)			MERCOSUR（メルコスールまたは南米南部共同市場も可）	2
	(5)			輸出用の資源を運ぶために道路や鉄道が建設され，道路に沿って熱帯林が伐採されて減少している。	2
4	(1)	A	①		2
		B	②		
		C	③		
	(2)			冬の北西の季節風の影響により，降水量が多くなる日本海側の気候の特徴が見られるため。	2
	(3)			琵琶湖	2
	(4)			地下水のくみ上げすぎによる地盤沈下のため。	2
	(5)			天下の台所	2
	(6)			中小企業（中小工場も可）	2
	(7)			歴史（伝統も可）	2
	(8)			奈良県（滋賀県も可）	1
	(9)			紀伊山地	1
5	(1)	①		近世	2
		②		日本における中世社会では，平清盛や源頼朝などの武士が政権をにぎった。将軍と御家人（家来）が主従関係を結び，将軍は御家人（家来）へ御恩として土地や役職を与えるという，幕府が土地や農民を支配する仕組みがとられた。その後，幕府への権力集中が薄れ，下剋上の風潮が広がり，幕府の支配から放れた戦国大名が領国を支配する仕組みがとられた。	4
	(2)			ウ	2

令和６年度佐賀県公立学校教員採用選考試験
専門試験Ⅰ　解答用紙及び解答例

中学校教諭等　社　会　　受験番号

6	5	(3)		私が考える「歴史を大きく変えた人物」は， 聖徳太子　です。 その理由を説明します。 ①聖徳太子が生きた時代の様子 ・加羅が滅び，朝鮮半島での力をもたなくなった ・豪族の対立が激しく，中でも中心となった蘇我氏が対立する物部氏を滅ぼし，政治の実権を握った。 ②聖徳太子が行ったこと ・遣隋使を派遣し，正式な国交を結ぼうとした ・冠位十二階の制度や憲法十七条を定めた ①②のことから， 豪族の対立を抑えて大王中心の政治の仕組みを整え，隋に認めてもらい，朝鮮半島への影響力を強めようとした ということが言えるため，その時代に与えた影響は大きかったと考えます。	
2		(4)	①	白村江の戦い	
2			②	名護屋城	
2			③	ウ	
2	6	(1)	①	隅	
2			②	エ	
3			③	不輸の権（不輸も可）	
2		(2)	①	後鳥羽上皇	

6	(2)	②		(教師)「承久の乱後に新たに地頭が任命された土地のある国がどこに多く分布しているか」 (生徒)・・・西日本に多く分布している ↓ 「新しく地頭を任命することにどのような意味があるのだろうか」 …朝廷に味方した武士の領地を没収し，戦功のあった東日本の御家人に御恩を与えた ↓ それまでは幕府と朝廷の力は拮抗する二元支配であったが，承久の乱によって，上皇を配流し朝廷を監視することで，幕府は朝廷よりも優位に立ち，その支配が西日本に及ぶまで に変化した。	4
	(3)		ア	×	2
			イ	○	2
			ウ	○	2
			エ	×	2
	(4)			エ → ウ → ア → イ	2
	(5)		①	ウ → イ → ア	2
			②	松平定信	2
			③	イ	3
7	(1)		①	エ	3
			②	征韓論	2

令和６年度佐賀県公立学校教員採用選考試験
専門試験Ⅰ　解答用紙及び解答例

中学校教諭等　社　会　　受験番号

4	7	(1)	③	17～18世紀，欧米では革命の結果，立憲君主制と議会政治が始まり，基本的人権や人間の平等という理想が掲げられるなど，近代的な法を備える国家が誕生した。欧米諸国は産業革命を遂げ，資本主義の仕組みを成立させ，帝国主義の考えのもとに圧倒的な軍事力を武器に植民地支配を進めた。かくして日本は列強国の圧力に押され，不平等条約を締結することとなった。当時の日本の最重要課題であった不平等条約改正のためには，近代的な法を整備し，列強から認められることが必要であった。 したがって，日本における立憲制の成立は，列強国から近代国家として認められ，国際社会での地位を向上させるという意義があった。
2		(2)	①	エ → ア → イ → ウ
2			②	二・二六事件
2		(3)	①	エ → ア → ウ → イ
2			②	日中共同声明
1	8	①		課題
1		②		義務
1		③		社会的事象
1		④		国民主権
1		⑤		公民
2	9	(1)		グローバル化（地球規模化，地球一体化，グローバリゼーション，グローバライゼーション）
2		(2)	①	多文化共生
2			②	大阪市生野区は全国で一番、外国人人口割合が高く，2015年と比較して人口割合も増加している。また，生産年齢人口，特に20代～30代の増加幅が大きい。
2		(3)	①	国際分業
2			②	コスト削減につながる。生産性が向上する。 途上国の経済発展に貢献できる。など
2		(4)		A　米　　B　肉類　　C　小麦
2		(5)		イ

	9	(6)		もったいない(モッタイナイ，Mottainai) 2
		(7)		環境基本法 2
		(8)		・日本は諸外国と比較してごみの焼却割合が高いから。 ・日本は焼却割合が高いから，リサイクル率が低い。 2
		(9)		エシカル消費(倫理的消費) 2
	10	(1)		ア 2
		(2)		イ 2
		(3)		ウ 2
		(4)	ア	社会保険 1
			イ	公的扶助 1
			ウ	社会福祉 1
			エ	公衆衛生 1
		(5)		すべて国民は， 健康で文化的な最低限度の生活を営む権利を有する。 2
		(6)		介護保険制度 1
				後期高齢者医療制度 1
		(7)	①	消費増税（消費税増税） 2
			②	買い控えなどで景気が減退し、経済成長率が低下することが課題である。 2
	11	(1)	①	総会　(国連総会も可) 1
			②	平和維持　(国連平和維持も可) 1
		(2)		ア 2
		(3)		集団安全保障 2
		(4)		制裁決議を行おうとしても，ロシアが拒否権を行使するため。 2
		(5)		アジア・アフリカの加盟国が増えたことで，分担金を多く負担する国の意見が通りにくくなったから。 2
		(6)		ウ 2
		(7)		地域主義（リージョナリズム） 2
		(8)		環太平洋経済連携協定（TPP11，TPP） 2
		(9)		移民の増加によって，自国民の失業率の上昇や社会保障の質が低下する恐れがあるから。 2
		(10)		国連難民高等弁務官事務所（UNHCR） 2
		(11)	①	フェアトレード 1
			②	マイクロクレジット 1

令和6年度佐賀県公立学校教員採用選考試験

専門試験Ⅰ　問題

高等学校教諭等

地理歴史

地　　理

令和６年度佐賀県公立学校教員採用選考試験
専門試験Ⅰ　問題

高等学校教諭等　地理歴史　共　通

１　次の（１）～（20）の各問いに答えなさい。

（１）法学研究で有名な、北イタリアに現存する最古の大学を、次のア～エの中から一つ選び、記号で答えよ。
ア．サレルノ大学　イ．オクスフォード大学　ウ．ボローニャ大学　エ．ケンブリッジ大学

（２）明の時代に中書省の廃止などによって皇帝独裁体制を強化した人物を、次のア～エの中から一つ選び、記号で答えよ。
ア．光武帝　イ．洪武帝　ウ．光緒帝　エ．宣統帝

（３）東西貿易で繁栄し、東南アジアのイスラーム化の拠点となった港市国家を、次のア～エの中から一つ選び、記号で答えよ。
ア．パガン朝　イ．マジャパヒト王国　ウ．スコータイ朝　エ．マラッカ王国

（４）1534 年、イギリスのヘンリ８世の時代に成立しイギリス国教会の成立に大きな影響を与えた法律を、次のア～エの中から一つ選び記号で答えよ。
ア．首長法　イ．統一法　ウ．航海法　エ．審査法

（５）産業革命期のイギリスにおいて、多軸紡績機と水力紡績機のそれぞれの長所を取り入れたミュール紡績機を発明した人物を、次のア～エの中から一つ選び記号で答えよ。
ア．ジョン＝ケイ　イ．アークライト　ウ．クロンプトン　エ．カートライト

（６）第一次世界大戦後の国際協調の機運が高まる中で 1925 年に締結された、ドイツと西欧諸国との国境の現状維持と相互保障が決められた条約を、次のア～エの中から一つ選び記号で答えよ。
ア．サン＝ステファノ条約　イ．九カ国条約　ウ．ロカルノ条約　エ．不戦条約

（７）1949 年、相沢忠洋によって群馬県で発見され、日本の旧石器時代解明の端緒となった遺跡を、次のア～エの中から一つ選び、記号で答えよ。
ア．三内丸山遺跡　イ．岩宿遺跡　ウ．纒向遺跡　エ．池上曽根遺跡

（８）大宝律令の編纂に深く関わった人物を、次のア～エの中から一つ選び、記号で答えよ。
ア．厩戸王　イ．舎人親王　ウ．刑部親王　エ．草壁皇子

（９）応仁の乱は、守護の勢力争いに将軍継嗣問題が絡んで始まったが、その将軍として正しいものを、次のア～エの中から一つ選び、記号で答えよ。
ア．足利尊氏　イ．足利義満　ウ．足利義政　エ．足利義昭

（10）もとは安芸の国人で、中国地方のほぼ全域を一代で制覇し、大国を築き上げた戦国大名を、次のア～エの中から一つ選び、記号で答えよ。
ア．大内義隆　イ．毛利元就　ウ．大友義鎮　エ．北条早雲

（11）江戸時代中期に設立された佐賀藩の藩校を、次のア～エの中から一つ選び、記号で答えよ。
ア．弘道館　イ．興譲館　ウ．造士館　エ．明倫館

（12）岩倉使節団に随行し、『特命全権大使米欧回覧実記』を著した人物を、次のア～エの中から一つ選び、記号で答えよ。
ア．大隈重信　イ．佐野常民　ウ．山口尚芳　エ．久米邦武

（13）1951 年、サンフランシスコ講和会議に招待されなかった国を、次のア～エの中から一つ選び、記号で答えよ。
ア．中華人民共和国　イ．ソ連　ウ．イギリス　エ．インド

（14）位置情報を持ったデータを総合的に管理・加工し、電子地図上に地図や図形など視覚的に表示する位置情報システムを何というか、次のア～エの中から一つ選び、記号で答えよ。
ア．GNSS　イ．GPS　ウ．GIS　エ．VICS

（15）学校に通う子どもが学校を休み、保護者とともに家庭や地域で体験、探究の学び・活動を自ら考え、企画・実行する制度を何というか、次のア～エの中から一つ選び、記号で答えよ。
ア．ワーケーション　イ．アクティブバケーション　ウ．ラーケーション　エ．バーチャルツアー

（16）観光客の著しい増加等が、地域住民の生活や自然環境、景観等に対して受忍限度を超える負の影響をもたらしたり、観光客の満足度を著しく低下させるような状況を何というか、次のア～エの中から一つ選び、記号で答えよ。
ア．サスティナブルツーリズム　イ．エシカルツーリズム　ウ．ネイチャーツーリズム　エ．オーバーツーリズム

(17) 2022年の日本における新生児の出生数は、統計を取り始めた１８９９年以降最低となったが、その数字に一番近いものを次のア～エの中から一つ選び、記号で答えよ。

ア．８０万人　イ．１２０万人　ウ．１６０万人　エ．２００万人

(18) 近年、コンビニエンスストアでは、配送の効率化や知名度を上げる方法として、一つの地域に集中させる出店方式がみられる。このような出店方式は何とよばれるか。次のア～エの中から一つ選び、記号で答えよ。

ア．拠点開発方式　イ．センターピボット方式　ウ．ドミナント方式　エ．フランチャイズ方式

(19) 青少年の相互交流を目的に、滞在期間中の旅行費用を補うため、一定の範囲内で働くことを互いに認め合う二国間の取り決めを何というか。次のア～エの中から一つ選び、記号で答えよ。

ア．シェンゲン協定　イ．Trips協定　ウ．ハーグ条約　エ．ワーキングホリデー制度

(20) 次の表１は日本の海面・内水面養殖における収穫量の多い上位都道府県を示している。何の養殖か、下のア～エの中から一つ選び、記号で答えよ。

表１

養殖収穫量（2020年，ｔ） 全国（16806）	鹿児島（7057），愛知（4315），宮崎（2856），静岡（1536），徳島（243）

『データブックオブ・ザ・ワールド2023年版』　二宮書店

ア．うなぎ　イ．かき　ウ．ぶり　エ．ます

２　地形について、次の（１）～（７）の各問いに答えなさい。

（１）世界の大地形について、次の図１をみて下の①～③の各問いに答えよ。

地質時代	先カンブリア時代	古生代	中生代	新生代
活動時期	A	B	C	

図１

① 大陸の地形や地殻構造は、造山運動によって形成されたものであり、造山運動によりその特徴が異なる。上の図１のＡの時期に形成された古い陸地は、楯状地と卓状地に分類されるが、次の図２の地形は楯状地と卓状地のどちらに該当するか。また、図２の地形の名称を答えよ。

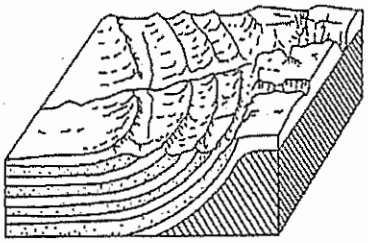

※ 地層は硬層と軟層の互層構造となっている。

『新地理の研究』啓隆社

図２

② 次の図３中の山脈は図１中の地質時代Ａ・Ｂ・Ｃのいずれかの活動時期に造山運動を受けた山脈である。Ｂの時代に造山運動を受けた山脈をすべて選び答えよ。

図３

③ 図１中のＢの地質時代に造山運動を受け形成された山脈は、現在では丘陵地や低くなだらかな山地になっていることが多いが、次のア～エのうち、その後の断層活動によって隆起し急峻な山脈となっているものはどれか、１つ選び、記号で答えよ。

ア．ウラル山脈　　イ．グレートディヴァイディング山脈
ウ．テンシャン山脈　　エ．スカンディナヴィア山脈

（２）次の会話は先生、ゆうとさん、みゆさんの日本の自然災害についてのものである。会話を読み、下の①・②の各問いに答えよ。

先　生：日本は自然災害が多い国です。今から100年前の1923年には関東大震災（関東地震）が起こり、死者・行方不明者は10万人以上に上りました。
ゆうと：私は熊本地震で震度５を経験したことがあります。過去の大きい地震を調べたら、消防庁のまとめで阪神・淡路大震災（兵庫県南部地震）の死者は６千人以上、東日本大震災（東北地方太平洋沖地震）は死者・行方不明者は１万９千人以上に上ることがわかりました。
み　ゆ：同じような規模の地震なのに、どうして死者・行方不明者の数が大きく違うんだろう。
ゆうと：それは、直下型地震の阪神・淡路大震災では建物の倒壊が被害を拡大したんだけど、1923 年の関東大震災では（　Ａ　）、東日本大震災では（　Ｂ　）が主な理由となり、死者・行方不明者が増えたみたいだよ。
先　生：関東大震災から100年目の節目だからこそ、もう一度地震について考えたいですね。世界で起きたマグニチュード６以上の地震は、2004年からの10年間で1629回です。そのうち、およそ18%が日本で起こっています。
み　ゆ：日本列島は、<u>４つのプレートがぶつかり合う境界</u>が集まる（　Ｃ　）帯とよばれる場所に位置し、地震が多いんですよね。日本で生活していく私たちにとって自然災害を理解し、防災・減災に取り組むことは大切なことですね。

① 会話中の（　Ａ　）～（　Ｃ　）に該当する適語をそれぞれ漢字二文字で答えよ。
② 会話中の下線部について、日本列島の東北日本が位置するプレートの名称を答えよ。

（３）世界の火山について述べた文として適当でないものを、次のア～エから１つ選び、記号で答えよ。
ア．北海道の昭和新山は粘性が強く、溶岩が火口内で固まり押し出されて形成された。
イ．鰻池は、マグマの水蒸気爆発で形成された円形の火口に水が溜まったマールである。
ウ．ハワイのキラウェア火山は溶岩と砕屑物が交互に噴出・堆積して円錐形の火山となっている。
エ．十和田湖は火山が噴火して、山体が陥没してできた窪地に水が溜まったカルデラ湖である。

（４）サンゴ礁の分布は赤道付近が中心であるが、次の図４のＥ付近にはサンゴ礁が形成されない。その理由を簡潔に答えよ。

図４

（５）乾燥地形について、海洋に出口をもたない内陸河川に該当するものを、次のア～オから１つ選び、記号で答えよ。
ア．ナイル川　　イ．ティグリス川　　ウ．インダス川　　エ．ヨルダン川　　オ．コロラド川

（６）氷河地形について述べた文として適当でないものを、次のア～エから１つ選び、記号で答えよ。

ア．現在の大陸氷河は南極大陸など陸地の約 10%ほどであるが、最終氷期には陸地の約 30%が氷河で覆われていた。

イ．山頂付近や山腹に氷河の侵食によってつくられた半円型のくぼ地をホルンという。

ウ．氷河の侵食・運搬作用によって氷河の末端などに砂礫が堆積して形成された丘状の地形をモレーンという。

エ．氷河によって形成された湖は氷河湖とよばれ、北アメリカの五大湖などが該当する。

（７）海岸地形を示した次の図Ｘ・Ｙをみて、あとの①～④の各問いに答えよ。

図Ｘ

高等学校教諭等　地理歴史
地　理

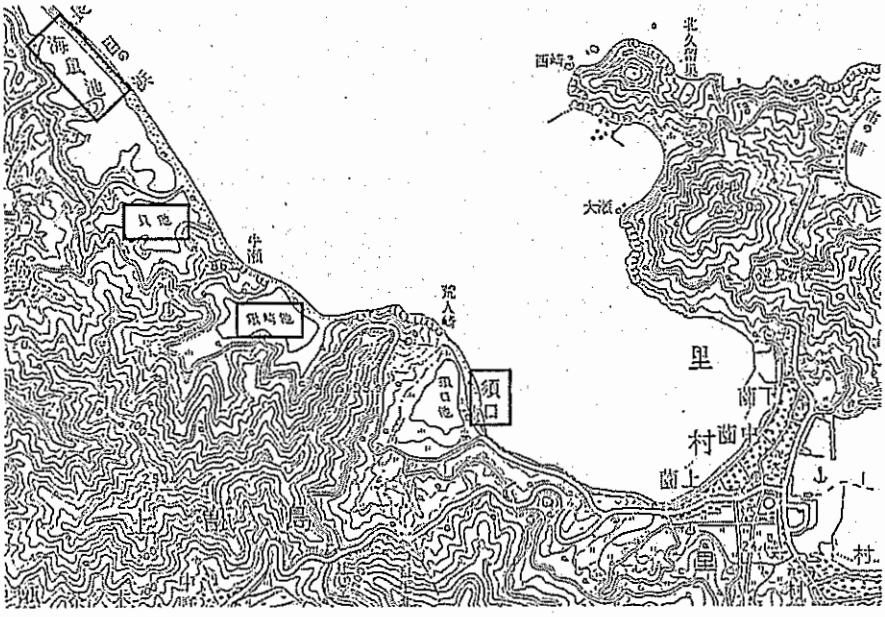

図Ｙ

① 図Ｘにみられるような離水作用で形成された海岸地形の名称を答えよ。

② 図Ｘの地形図の縮尺を答えよ。

③ 図Ｙの「海鼠池」「貝池」「鍬崎池」にみられるように、砂州などによって外海と隔てられた水域を何というか答えよ。

④ 図Ｙの「須口」と同じ海岸地形がみられるものを、次のア～エから１つ選び、記号で答えよ。

ア．天橋立　　イ．函館　　ウ．海の中道　　エ．三保半島

高等学校教諭等　地理歴史
　　地　理

３　気候・自然環境に関する（１）～（６）の各問いに答えなさい。

（１）世界のおもな気候について、次の文章を読んで下の①～⑤の各問いに答えよ。

地球の自転と公転により、気温は１日周期、１年周期で変動しており、１日の気温の最高気温と最低気温の差を日較差、１年のうちの最暖月の平均気温と最寒月の平均気温の差のことを(a)年較差という。陸地を覆う土や岩石に比べて、水は(b)比熱が（　A　）性質をもっている。海に近い所では、気温の年較差が比較的（　B　）ため、海洋性気候となる。

世界的な気温の分布をみると、太陽からの受熱量の違いから緯度との相関関係がみられるが、標高や(c)隔海度といった気候（　C　）の影響を受けるため、等温線は緯度に平行にならない地域もある。また、同じ経度上で最も気温が高い点をつないでできた線を（　D　）という。

① 文章中の（　A　）・（　B　）にあてはまる適語の正しい組合せを、次のア～エから１つ選び、記号で答えよ。

ア．A：大きい　B：大きい　　イ．A：大きい　B：小さい

ウ．A：小さい　B：大きい　　エ．A：小さい　B：小さい

② 文章中の（　C　）・（　D　）にあてはまる適語をそれぞれ答えよ。

③ 文章中の下線部（a）について、次の図１と図２は緯度別の年降水量と年蒸発量、緯度別の年平均気温と年較差を示しており、図中のＰ～Ｓは年降水量、年蒸発量、年平均気温、年較差のいずれかである。年較差をＰ～Ｓから一つ選び、記号で答えよ。

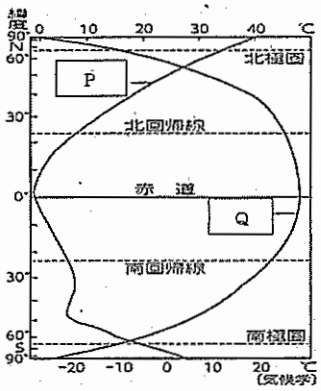

図１

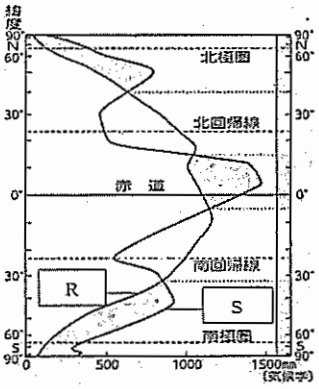

図２

『新詳地理研究』帝国書院

④ 文章中の下線部(b)について、陸地と海の比熱の違いは上昇気流や下降気流を生じさせるために、海洋に囲まれた日本の気候はその影響を大きく受けているといえる。次の図３は、海岸付近の海や陸でみられる気流や風の方向を、矢印を使って模式的に示したものである。海岸部における海から陸に向かう風は、どの時間帯に吹くか、下のア～エから１つ選び、記号で答えよ。

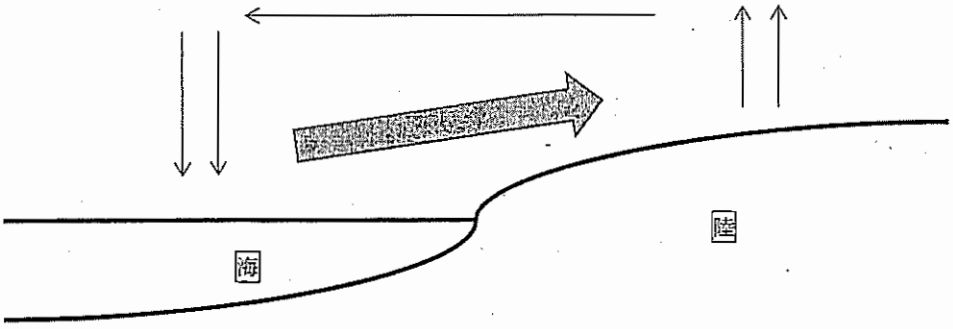

図３

ア．朝夕　　イ．一日中　　ウ．昼間　　エ．夜間

⑤　文章中の下線部(c)について、次の砂漠のうち隔海度と関連の深い砂漠を、次の語群からすべて選び、答えよ。

語群：			
	アタカマ砂漠	カラクーム砂漠	グレートサンディ砂漠
	タクラマカン砂漠	ナミブ砂漠	ルブアルハリ砂漠

（２）15 世紀に始まった大航海時代は、帆船を利用した航海が行われた。図４は 1492 年にコロンブスが、西インド諸島に到達したルート示している。コロンブスが往路と復路に利用したと考えられる風は何か。図４を参考に最も適当な風の名称を往路と復路でそれぞれ答えよ。

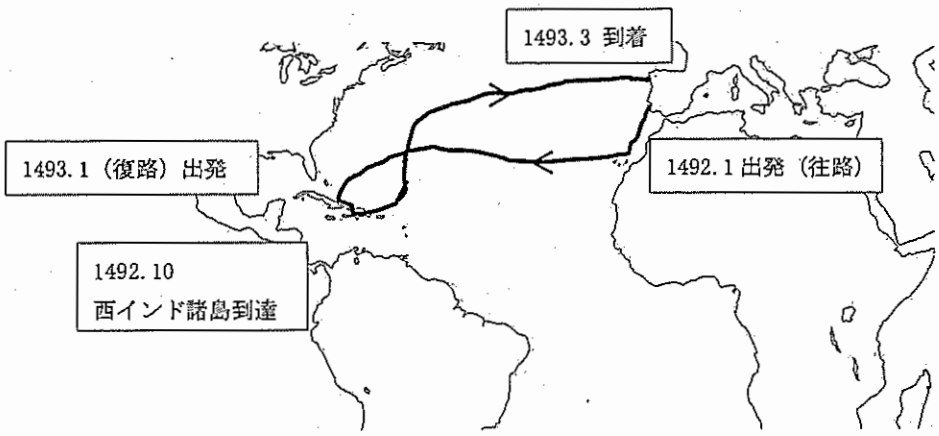

図４

（３）次の表１は、海洋別の気候帯の割合（%）を示しており、表１中のＸ～Ｚはインド洋、大西洋、太平洋のいずれかである。Ｘ～Ｚと海洋名の正しい組合せを、下のア～カから１つ選び、記号で答えよ。

表１

	X	Y	Z
熱帯	51.4	44.1	27.1
乾燥帯	1.4	4.1	9.0
温帯	33.1	25.7	34.2
亜寒帯	2.5	…	1.4
寒帯	11.6	26.1	28.3

『データブックオブ・ザ・ワールド 2023 年版』　二宮書店

	ア	イ	ウ	エ	オ	カ
インド洋	X	X	Y	Y	Z	Z
大西洋	Y	Z	X	Z	X	Y
太平洋	Z	Y	Z	X	Y	X

（４）次の図５をみて、下の①～④の各問いに答えよ。

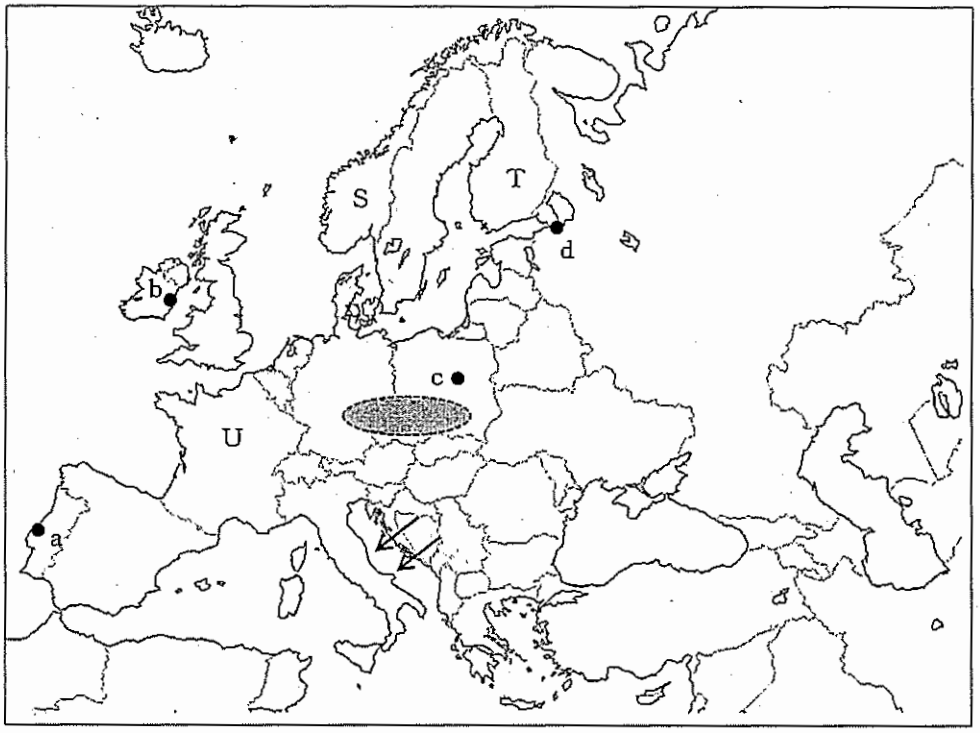

図５

① 次の図６のア～エは図５中のａ～ｄのいずれかの都市における月平均気温と月降水量を示したものである。都市ｃのハイサーグラフを、ア～エから１つ選び、記号で答えよ。

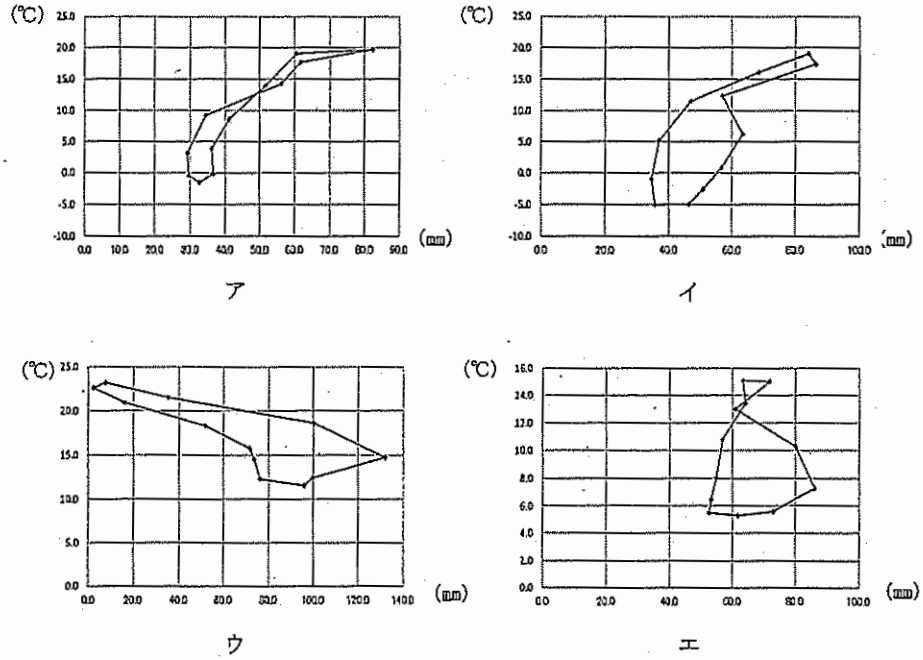

図６　『理科年表 2023』国立天文台編

② 図５中の矢印（←）は、アドリア海に向けて吹く局地風（地方風）を示している。この風の名称と特徴との正しい組合せを、次のア～エから１つ選び、記号で答えよ。

ア．名称：スホベイ　特徴：高温、乾燥　　イ．名称：スホベイ　特徴：低温、湿潤
ウ．名称：ボラ　特徴：高温、湿潤　　エ．名称：ボラ　特徴：低温、乾燥

③ 次の文は図５中の　で囲まれた地域における自然環境や人々の生活について述べている。文中の（　あ　）～（　う　）にあてはまる適語をそれぞれ答えよ。ただし、語群のあるものは語群から選べ。

> この地域は、氷河の末端から風によって細かい土が運ばれ、（　あ　）とよばれる風積土が厚く堆積している。透水性がよく肥沃なため（　い：大麦　小麦　大豆　綿花）の栽培が盛んである。また、おもに広葉樹と針葉樹が混じる（　う　）林が広がるため、木材を建材とした家屋がみられる。

④ 次の表１のＸ～Ｚは図５中のＳ～Ｕのいずれかの国における森林面積と森林面積の国土面積比（2019 年）と年較差を示したものである。Ｓ～ＵとＸ～Ｚとの正しい組合せを、下のア～カから１つ選び、記号で答えよ。
※年較差は各国の首都付近のものである。

表１

	森林面積（千 ha）	森林の国土面積比（%）	年較差（℃）
X	22 409	66.2	23.0
Y	17 170	31.3	15.8
Z	12 172	19.5	20.9

『世界国勢図会 2022/23』矢野恒太記念会,『理科年表 2023』国立天文台編

	ア	イ	ウ	エ	オ	カ
S	X	X	Y	Y	Z	Z
T	Y	Z	X	Z	X	Y
U	Z	Y	Z	X	Y	X

（５）次の図７は気候と土壌の関連を示した模式図である。図７をみて、下の①・②の各問いに答えよ。

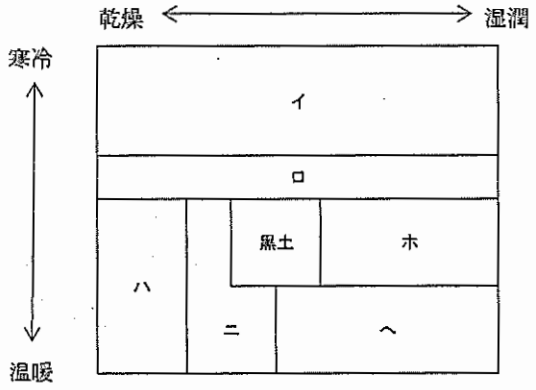

図７

① 下のｉ・ⅱの各文は図７中のイ～ヘのどの土壌について説明したものか、それぞれ選び、記号で答えよ。
ｉ．青灰色の土壌。夏に繁茂するコケ類や地衣類などが、低温のために十分に分解せず堆積している。
ⅱ．雨で有機物や塩類が流され溶脱作用を受けた、赤色のやせた土壌。強い日射を受けると乾燥して固まる。

② 図７中のハの土壌が広がる地域で栽培されるヤシ科の作物として最も適当なものを、次のア～ウから１つ選び、記号で答えよ。



ア　　イ　　ウ

『データブック オブ・ザ・ワールド 2023 年版』　二宮書店

（６）次の写真１は、埼玉県東部地域にある、地下 50mにつくられた総延長 6.3 kmに及ぶ地下建造物を示したものである。この建造物の目的を答えよ。



『新詳地理資料 COMPLETE2023』帝国書院

写真１

４　産業について、次の（１）～（10）の各問いに答えなさい。

（１）次の図１はおもな国の労働生産性と土地生産性を示しており、図１中のＲ～Ｕはアジア、アフリカ、新大陸、ヨーロッパのいずれかの地域である。アジアを示すものを、Ｒ～Ｕから１つ選び、記号で答えよ。

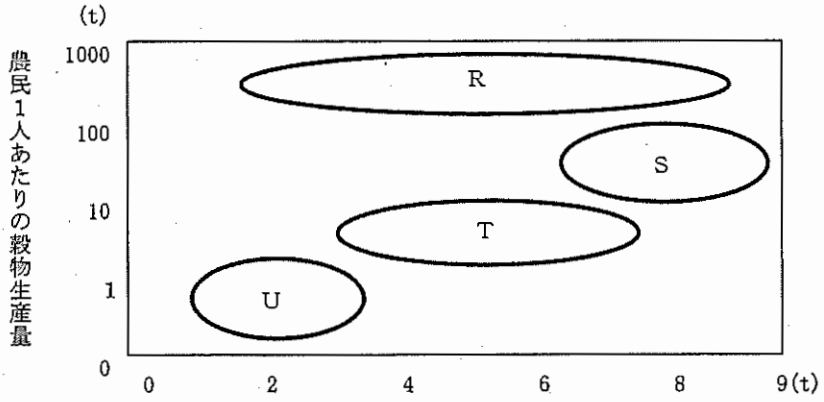

図１　「2019 FAOATAT」、ほか

（２）世界の農業について述べた文として適当でないものを、次のア～エから１つ選び、記号で答えよ。

ア．アジアでも降水量が比較的少ない地域では、外来河川から水を得たり灌漑設備を整えることで集約的畑作が行われる。

イ．ヨーロッパでは連作によって地力が低下するのを防ぐため、牧草や飼料作物を栽培して乳牛を飼育する移牧がみられる。

ウ．地中海沿岸やアメリカ合衆国の南西部、チリ中部では、冬の降雨を利用して、平地を中心に小麦栽培が行われる。

エ．果樹や野菜、花卉などを栽培する園芸農業は、単位面積あたりの収穫が大きいため、近郊農業の形式をとることが多い。

（３）次の文章はプランテーション農業について述べたものである。下の①～④の各問いに答えよ。

プランテーション農業は熱帯・亜熱帯地域などにみられるａ大農園で行われる企業的農業で、歴史的にはヨーロッパ人による植民地支配の下、南北アメリカ、アフリカ、ｂ東南アジアで大きく発展した。奴隷労働力を用いたり、現地の人や移民を低賃金で大量に雇用したりして、世界市場向けのｃ商品作物をｄ単一耕作（モノカルチャー）で大規模に栽培した。

①　文章中の下線部ａについて、南アメリカ大陸では大土地所有制度が現存し、大農園で商品作物が栽培されている。ファゼンダとよばれる大農園はどこの国における名称か、国名を答えよ。

②　文章中の下線部ｂについて、マレーシアでは19世紀半ば以降、天然ゴムを広く栽培してきた。第二次世界大戦後、農業経営はマレーシアの企業に移行し、1970年以降は天然ゴムから新しい作物への転換が進んでいる。転作した理由や社会的背景を、天然ゴムの老木化以外で、２つ答えよ。

③　文章中の下線部ｃについて、次の図２のⅠ～Ⅲはキャッサバ、サイザル麻、落花生の世界における生産上位６か国（2020年）を示したものである。Ⅰ～Ⅲの作物の正しい組合せを、下のア～カから１つ選び、記号で答えよ。

	生産上位国
1	ナイジェリア
2	コンゴ民主
3	タイ
4	ガーナ
5	インドネシア
6	ブラジル

Ⅰ

	生産上位国
1	中国
2	インド
3	ナイジェリア
4	アメリカ
5	スーダン
6	セネガル

Ⅱ

	生産上位国
1	ブラジル
2	タンザニア
3	ケニア
4	マダガスカル
5	中国
6	メキシコ

Ⅲ

図２『データブック オブ・ザ・ワールド 2023年版』　二宮書店

	ア	イ	ウ	エ	オ	カ
Ⅰ	キャッサバ	キャッサバ	サイザル麻	サイザル麻	落花生	落花生
Ⅱ	サイザル麻	落花生	キャッサバ	落花生	キャッサバ	サイザル麻
Ⅲ	落花生	サイザル麻	落花生	サイザル麻	サイザル麻	キャッサバ

④　文章中の下線部ｄについて、次の文はモノカルチャー経済の弊害とその解決策について述べたものである。文章中の（　　）にあてはまる適語を答えよ。

モノカルチャー経済は、生産量や世界価格の変動で国全体の経済が安定しないこと、食糧の生産より商品作物の栽培が優先され、自国で消費される穀物は輸入に依存するなど問題が多い。
先進国と発展途上国との経済格差を解消するためには、気候変動を受けにくい農作物への転換や農業の多角化といった途上国側の取り組みや、適正な価格で購入・消費する（　　）など、先進国側からの持続可能な農業支援が考えられる。

（４）次の図３は穀物価格の推移を示しており、図３中のＸ～Ｚは米、小麦、とうもろこしのいずれかである。Ｘ～Ｚと穀物名の正しい組合せを、下のア～カから１つ選び、記号で答えよ。

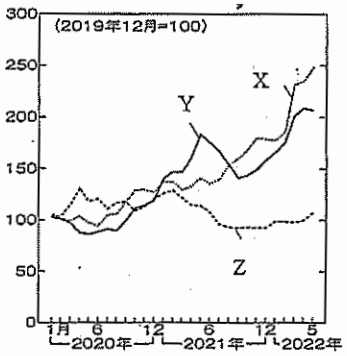

図３　　『世界国勢図会 2022/23』矢野恒太記念会

	ア	イ	ウ	エ	オ	カ
Ｘ	米	米	小麦	小麦	とうもろこし	とうもろこし
Ｙ	小麦	とうもろこし	米	とうもろこし	米	小麦
Ｚ	とうもろこし	小麦	とうもろこし	米	小麦	米

（５）次の文章は世界の水産業について述べたものである。文章中の（　あ　）～（　う　）にあてはまる語句や数字の組合せとして正しいものを、下のア～カから１つ選び、記号で答えよ。

> 世界の主な漁場のうち、漁獲量が最大なのは（　あ　）である。日本は（　い　）年代まで世界最大の漁獲高を誇ったが、近年は低迷しており、とりわけ遠洋漁業や沖合漁業の漁獲量が大きく減った。現在、日本は世界有数の水産物輸入国となっており、えびは（　う　）などから輸入している。

	ア	イ	ウ	エ	オ	カ
あ	大西洋北東部	大西洋北東部	大西洋北東部	太平洋北西部	太平洋北西部	太平洋北西部
い	1970	1980	1990	1970	1980	1990
う	ベトナム	スペイン	台湾	モロッコ	インド	チリ

（６）次の表１は業種別工業出荷額を示しており、表１中のア～エはアラブ首長国連邦、インドネシア、タイ、パキスタンのいずれかである。アとイの国名をそれぞれ答えよ。
※統計年次はタイとパキスタンが 2018 年、アラブ首長国連邦が 2019 年、インドネシアが 2020 年。

表１　（単位　億ドル）

	ア	イ	ウ	エ
食料品工業※1	274	826	100	1 412
繊維工業	304	189	29	431
石油製品※２	73	101	295	208
化学工業	136	331	169	433
金属工業	57	423	283	344
鉄鋼・非鉄	48	210	159	237
金属製品	9	213	124	107
機械工業	91	1 596	160	1 030
一般機械	10	220	100	142
電気自動車※３４５	27	640	36	410
自動車	42	685	9	358
計×	1 075	4 270	1 247	4 897

※１たばこを含む。※２石炭製品、核燃料を含む。※３事務用機器（パソコン等）含む。※４テレビ等含む。
※５精密機器等含む。　『世界国勢図会 2022/23』

（７）次のア～エの各文は、繊維工業、自動車工業、電気機械工業、石油化学のいずれかの工業について述べたものである。電気機械工業について述べたものを、ア～エから１つ選び、記号で答えよ。

ア．多くの部品を必要とする総合組立工業のため、分業形態がとられ、部品の輸送や各種の取引の規模は拡大し、かつ複雑化してきた。現在、主要なメーカーは本国だけでなく、外国にも複数の生産・販売拠点を置いている。

イ．市場に近く原料の輸入に便利な臨海部に立地する。原料を加工した中間財は幅広い工業原料として使用されるため、関連工場が近接して立地している。

ウ．組立は流れ作業で行われ、労働集約的な側面が強いため、輸出指向型の工業化を進めた地域で生産量が増加している。1990 年ごろまで日本は世界的な生産国であったが、近年は開発や高級モデルの製造拠点を残すのみとなった。

エ．主な市場は先進国であるのに対して、賃金水準が低い地域に生産工場が多く立地する。近年、消費地では、企画・開発や販売などに特化し、生産自体は他社に委託する企業もみられるようになった。

（８）次の図４は日本における工場の分布（2018 年７月）を示しており、図４中のＸ～Ｚは集積回路（IC）工場、セメント工場、ビール工場のいずれかである。Ｘ～Ｚと各工場の正しい組合せを、下のア～カから１つ選び、記号で答えよ。

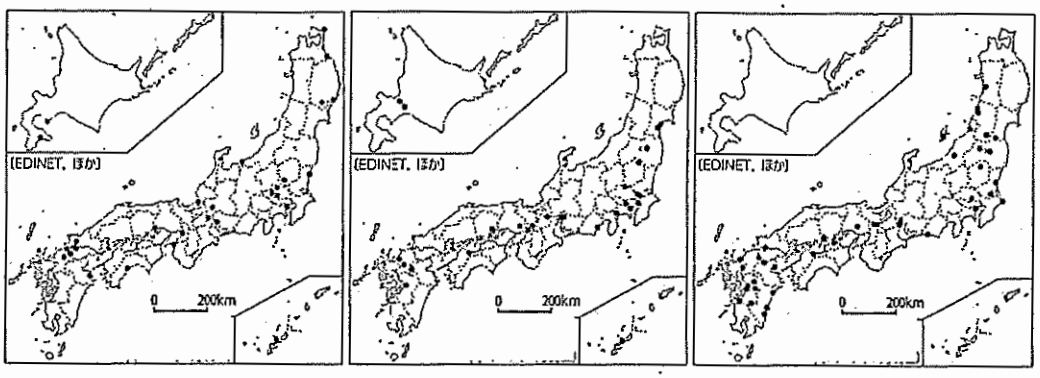

Ｘ　　Ｙ　　Ｚ

図４

	ア	イ	ウ	エ	オ	カ
Ｘ	集積回路	集積回路	セメント	セメント	ビール	ビール
Ｙ	セメント	ビール	集積回路	ビール	集積回路	セメント
Ｚ	ビール	セメント	ビール	集積回路	セメント	集積回路

（９）図５中のＸ～Ｚはイタリア、日本、メキシコのいずれかの国の産業別人口構成の推移を示しており、●と▲は 1965 年または 2018 年のどちらかである。Ｘ～Ｚと国名の正しい組合せを、下のア～カから１つ選び、記号で答えよ。

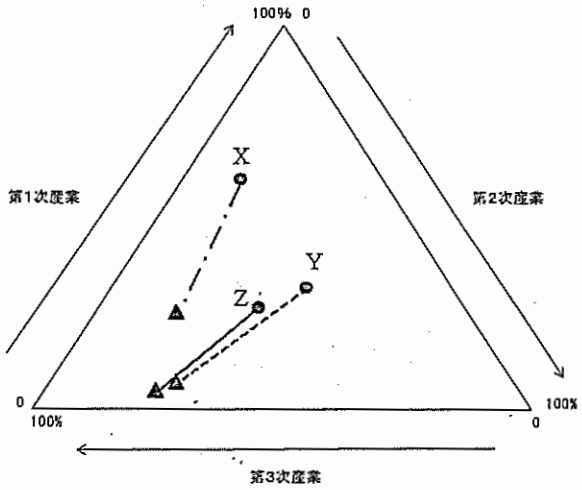

図５　　ILO 資料ほか

	ア	イ	ウ	エ	オ	カ
Ｘ	イタリア	イタリア	日本	日本	メキシコ	メキシコ
Ｙ	日本	メキシコ	イタリア	メキシコ	日本	イタリア
Ｚ	メキシコ	日本	メキシコ	イタリア	イタリア	日本

(10) 次の表２のⅠ～Ⅲは、日本における観光レクリエーション施設数（海水浴場、ゴルフ場、スキー場）を示しており、表２中のＡ～Ｃは千葉県、北海道、新潟県のいずれかである。Ａ～Ｃと道県名の正しい組合せを、下のア～カから１つ選び、記号で答えよ。

表２

Ⅰ

道県名	施設数
長野県	79
A	60
B	30
群馬県	22
岐阜県	18
福島県	16
兵庫県	13
岩手県	11

Ⅱ

道県名	施設数
兵庫県	159
C	158
B	153
栃木県	132
茨城県	119
静岡県	90
岐阜県	88
埼玉県	83

Ⅲ

道県名	施設数
長崎県	66
C	65
A	61
福井県	57
山口県	56
鹿児島県	55
静岡県	54
B	48

※統計年次は 2016 年，「数字でみる観光 2016」ほか

	ア	イ	ウ	エ	オ	カ
A	千葉県	千葉県	北海道	北海道	新潟県	新潟県
B	北海道	新潟県	千葉県	新潟県	千葉県	北海道
C	新潟県	北海道	新潟県	千葉県	北海道	千葉県

５　人口、村落・都市、生活文化と民族・領土問題について、次の（１）～（12）の各問いに答えなさい。

（１）次の表１中のア～オはアジア、アフリカ、ヨーロッパ、ラテンアメリカ、オセアニアのいずれかの推計人口１億人以上の国の数の推移を示したものである。アフリカに該当するものを、次のア～オから１つ選び、記号で答えよ。

表１

	ア	イ	ウ	エ	オ
1980年	1	0	1	0	4
2000年	1	0	1	1	6
2020年	1	0	2	3	7
2040年（推定）	1	0	2	5	8

『地理探究』東京書籍

（２）次の図１は、戦後の日本の出生率、死亡率、人口総数の推移を示したものである。図１に関する下の文章を読み、あとの①・②の各問いに答えよ。

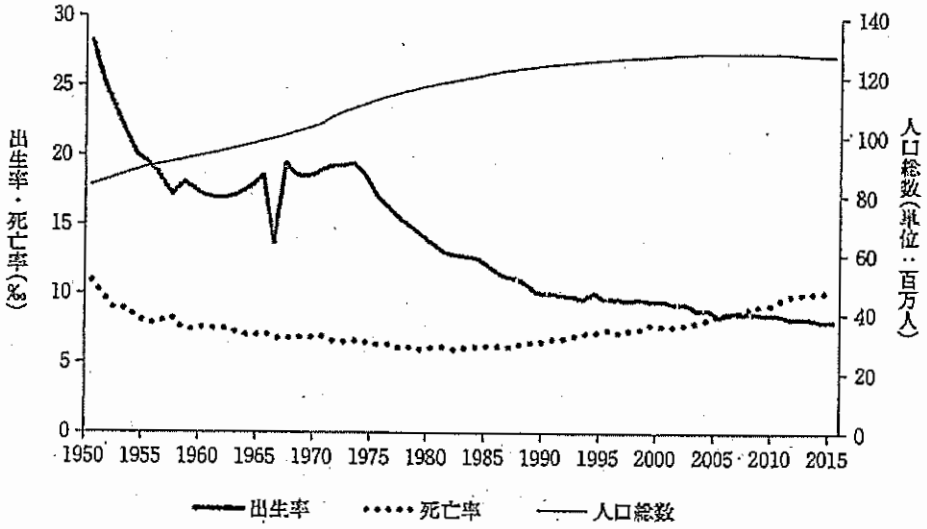

人口動態統計，国勢調査により作成。

図１

日本の人口は第二次世界大戦後も一貫して増加し続けてきたが、【a】出生率は1970年代をピークに低下した。死亡率も戦後は低下したが、1980年代後半から上昇して2000年代に入ると出生率を上回るようになり、日本の人口は減少に転じている。

少子高齢化や人口減少に対し、日本政府はさまざまな【b】少子化対策や労働人口減少対策などを実施しているが、解決すべき課題も多く残されている。

①　下線部【a】について、1970年代の出生数が大幅に増加したことは何とよばれるか。

②　下線部【b】について、合計特殊出生率を向上させるためには、「ジェンダー格差の是正」や「仕事と生活の調和」の実現などが必要といわれている。このうち「仕事と生活の調和」は何とよばれるか、カタカナで答えよ。

（３）次の表２は、おもな都道府県の国籍別在留外国人割合を示しており、表２中のＡ～Ｄは、アメリカ合衆国、中国、韓国、ブラジルのいずれかである。アメリカ合衆国と韓国に該当するものをそれぞれ答えよ。

表２

都道府県名	在留外国人数の国籍別割合（%）
東　京	（　Ａ　）40.0　（　Ｂ　）16.0　ベトナム 6.7　フィリピン 6.0　ネパール 4.4
大　阪	（　Ｂ　）37.2　（　Ａ　）26.5　ベトナム 15.4　フィリピン 3.7　台湾 2.5
愛　知	（　Ｃ　）22.0　（　Ａ　）17.6　ベトナム 15.9　フィリピン 14.3　（　Ｂ　）10.4
静　岡	（　Ｃ　）31.1　フィリピン 17.3　ベトナム 13.5　（　Ａ　）11.4　ペルー 4.7
沖　縄	ベトナム 15.4　（　Ａ　）13.2　（　Ｄ　）12.7　ネパール 11.3　フィリピン 11.3

『2023 年版　地理統計　Plus』　帝国書院

（４）次の図２のＡ～Ｃはそれぞれ成立の起源が異なる日本の村落を示している。図２をみて、下の①～③の各問いに答えよ。

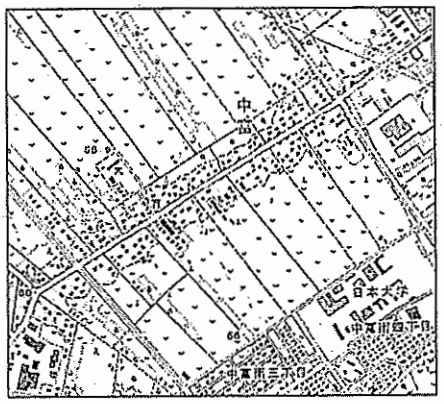

Ａ

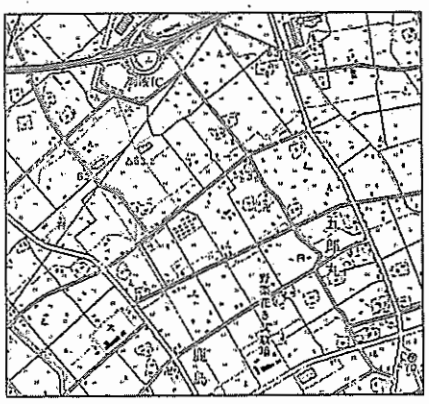

Ｂ

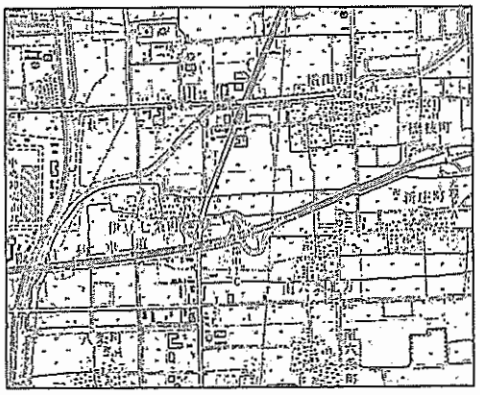

Ｃ

図２

①　図２のＡ～Ｃを起源が古い順番に並び替えよ。

②　図２のＡの村落の形態として正しいものを、次のア～エから１つ選び、記号で答えよ。

ア．街村　　イ．列村　　ウ．路村　　エ．塊村

③　図２のＢにみられる村落名として正しいものを、次のア～エから１つ選び、記号で答えよ。

ア．隠田百姓村　　イ．豪族屋敷村　　ウ．名田百姓村　　エ．寺百姓村

（５）次の図３中のハンブルク、ブダペストの都市の立地条件に該当するものを、下のア～オより選び、それぞれ記号で答えよ。

図３

ア．河川の合流点　　イ．潮汐限界点　　ウ．渡津　　エ．湖畔　　オ．峠のふもと

（６）古代都市や中世ヨーロッパの都市にみられる、市街地の周囲に城壁を備えた都市の名称を答えよ。

（７）城下町について述べた文として**誤っているもの**を、次のア～エから１つ選び、記号で答えよ。

ア．身分別・職業別の居住区が形成され、武家屋敷、町人町、職人町などに分かれていた。

イ．遠見遮断の効果をもつ丁（T）字路やかぎ状路が計画的に配置されていた。

ウ．防御的な機能を高めるために、居住地域と周辺農地の外側には、濠や土塁がめぐらされている。

エ．日本の県庁所在地には、この都市を起源としたものが多い。

（８）次の図４は 1950 年以降のロンドン、ニューヨーク、東京都区部の人口推移を示したものである。図をみて、下の①・②の各問いに答えよ。

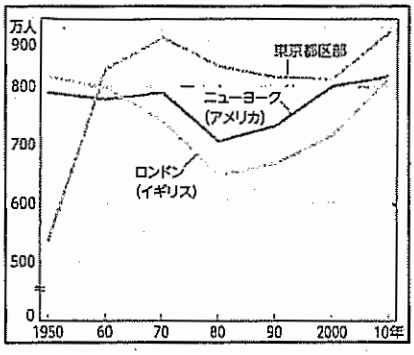

『地理探究』東京書籍

図４

① ニューヨークでは 1980 年代以降、人口が増加しているが、これは写真１にみられるようにインナーシティの居住環境が改善され、高所得層が回帰したことが一つの要因であるが、このような現象を何というか答えよ。



『地理探究』東京書籍

写真１

② ロンドンでは、かつての港湾施設が集中していた地区の再開発がすすみ、オフィスやマンションなどへ生まれ変わって 1980 年代から人口回帰がみられたが、この地区の名称を答えよ。

（９）次の図５中のＷ～Ｚは、オーストラリア、カナダ、韓国、ドイツのいずれかの国の人口１～６位までの各都市の人口が各国の総人口にしめる割合（%、2016 年）を示したものである。オーストラリアに該当するものをＷ～Ｚから１つ選び、記号で答えよ。

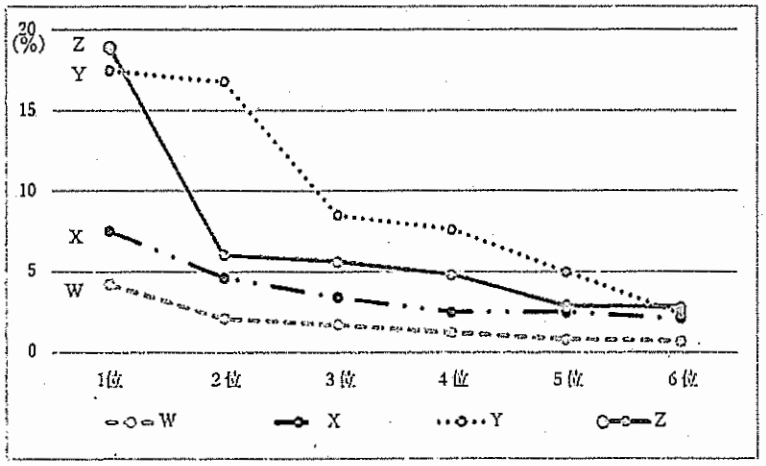

『データブック オブ・ザ・ワールド 2023 年版』　二宮書店

図５

(10) 次の写真２は乾燥地域の住居を示したものである。この地域の住居は窓が小さいが、その理由を乾燥地域の気候の特徴にふれながら説明せよ。



『新編地理資料 2023』とうほう

写真２

(11) 次の図６中のＡ～Ｄの国や島で信仰される宗教に関して述べた文として、誤っているものを、下のア～エから１つ選び、記号で答えよ。

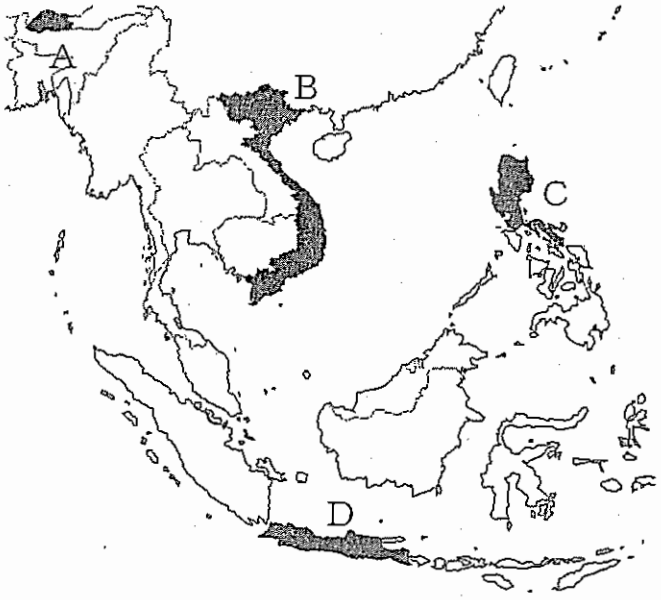

図６

ア．Ａ国ではチベット仏教が多く信仰される。
イ．Ｂ国では上座仏教が多く信仰される。
ウ．Ｃ島ではカトリックが多く信仰される。
エ．Ｄ島ではイスラム教が多く信仰される。

(12) 国家群を説明した文として正しいものを、次のア～エから１つ選び、記号で答えよ。
ア．NAFTA は 2020 年に USMCA（米国・メキシコ・カナダ協定）という新しい貿易協定に代わり、管理貿易の色彩が強まった。
イ．NATO は西側諸国による集団防衛機構で、旧ソ連と国境を接するフィンランドなどの国を中心に結成された。
ウ．OAPEC はアラブ産油国が石油戦略を共同して行うことを目的として、サウジアラビアやイランなどの国を中心に結成された。
エ．MERCOSUR は、域内関税を相互撤廃して対外共通関税などを設定した自由貿易圏で、南アメリカ大陸すべての国が参加している。

高等学校教諭等　地理歴史
地　理

６　オセアニアについて、次の図１をみて（１）～（９）の各問いに答えなさい。

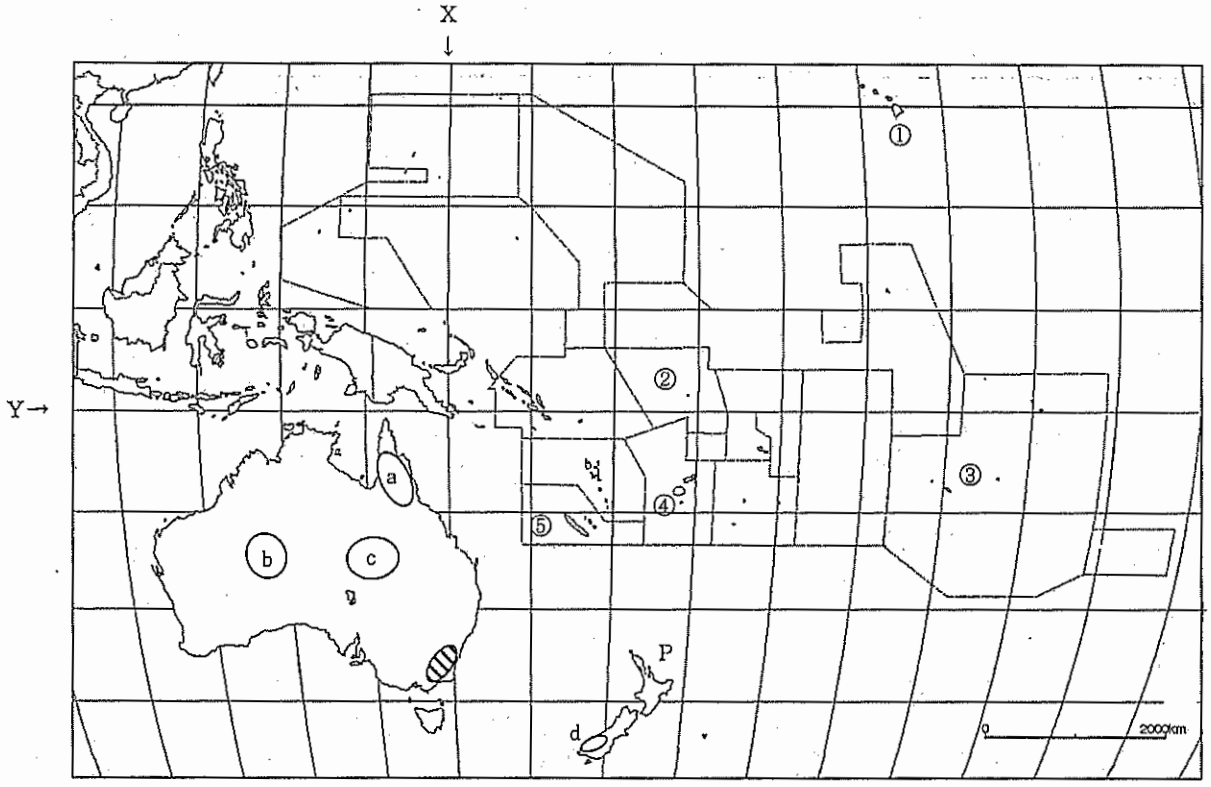

図１

（１）経線Ｘと緯線Ｙの正しい組合せはを、次のア～ケから１つ選び、記号で答えよ。

	ア	イ	ウ	エ	オ	カ	キ	ク	ケ
X	140° E	140° E	140° E	150° E	150° E	150° E	160° E	160° E	160° E
Y	10° S	20° S	30° S	10° S	20° S	30° S	10° S	20° S	30° S

（２）次の各文は図１中の①～⑤の島々について説明したものである。①～⑤の文中の（　あ　）～（　お　）にあてはまる適語をそれぞれ答えよ。

①　この諸島は（　あ　）上にあるため、多くの火山島から成る。そのうちの一つの島は一年中、巨大な波が打ち寄せることでサーフィンの名所として知られている。

②　地球温暖化により（　い　）することで、地中から海水が噴出し畑の作物が被害を受けたり、井戸水が塩水化するなどの被害が出ている。国民の集団移住をニュージーランドに打診し、条件つきで年間 75 人ずつの移住が進行中である。

③　サンゴ礁の島々からなる美しい地域。「タヒチの女」で有名な画家のゴーギャンが晩年を過ごした島や宗主国である（　う　）が 1960 年から 1970 年代に繰り返し核実験を行ったことでも知られる。

④　かつて植民地時代に入植した（　え　）系の住民と原住民との政治的な対立がみられる。現在、プランテーションで栽培されるさとうきびと観光がおもな産業となっている。

⑤　特殊鋼に用いられる（　お　）が多く産出され、世界の 10%（2017 年）を産出している。ほかの主な産出国としては、インドネシアやフィリピンなどの島嶼国がある。この島では現在、（　う　）の国の領土となっている。

（３）図１中の ▨ の地域について述べた文として適当なものを、次のア～エから１つ選び、記号で答えよ。

ア．比較的新しい堆積物に覆われた低地から成り、自噴井を利用した家畜の放牧がみられる。

イ．古生代に形成された山々が連なり、同国では最も高い山がある山脈となっている。

ウ．平らに侵食された地形と湿潤な気候を利用し、プランテーション農業がみられる。

エ．先カンブリア時代の地層が露出した平原の中に、巨大な一枚岩が残されている。

（４）世界における羊毛の生産量のうちオーストラリアで 15.9%、ニュージーランドで 8.5%（2020 年）を生産している。羊のおもな放牧地として適当なものを、図１中の ◯ で示した a～d の地域から１つ選び、記号で答えよ。

（５）図１中のＰの国における公用語は何か、２つ答えよ。

（６）次の表１は森林面積、伐採高（用材、薪炭材、針葉樹）、丸太輸出高について示しており、Ａ～Ｃはオーストラリア、ニュージーランド、パプアニューギニアのいずれかである。Ａ～Ｃと国名の正しい組合せを、下のア～カから１つ選び、記号で答えよ。

表１

国名	森林面積（千 ha）	用材伐採高（千㎥）	薪炭材伐採高（千㎥）	針葉樹伐採高（千㎥）	丸太輸出高（千㎥）
A	134 005	32 710	4 125	17 202	5 114
B	35 889	4 072	5 533	40	2 901
C	9 866	35 969	－	35 669	21 856

※統計年次は丸太輸出のみ 2020 年、ほか 2019 年。『世界国勢図会 2022/23』矢野恒太記念会

	ア	イ	ウ	エ	オ	カ
オーストラリア	A	A	B	B	C	C
ニュージーランド	B	C	A	C	A	B
パプアニューギニア	C	B	C	A	B	A

（７）次の図２は、オーストラリアにおける主な輸出相手国の推移を示しており、ア～エはアメリカ合衆国、イギリス、日本、中国のいずれかである。アとイの国名をそれぞれ答えよ、※図中の数値は%

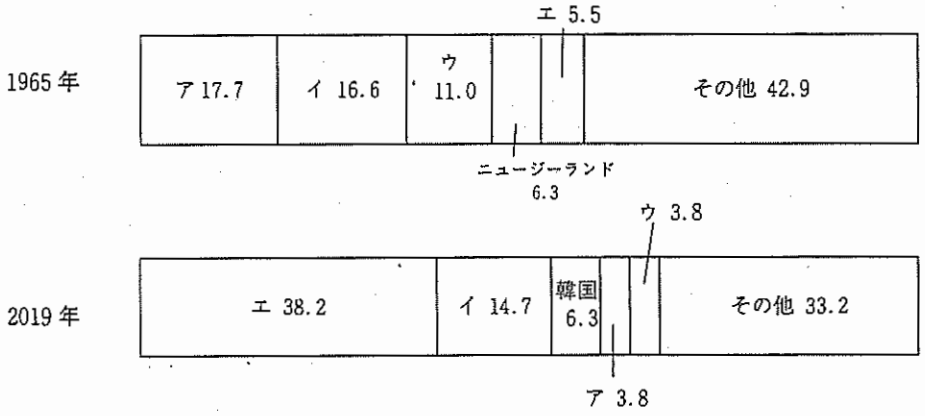

『世界国勢図会 2021/22』矢野恒太記念会ほか

図２

（８）次の図３は、インド、オーストラリア※、スペイン※いずれかの国における国際移住者（他の国籍を持つ移住者）数の推移を示している。Ｘ～Ｚと国名との正しい組合せを、下のア～カから１つ選び、記号で答えよ。
※海外領土、自治領を含む

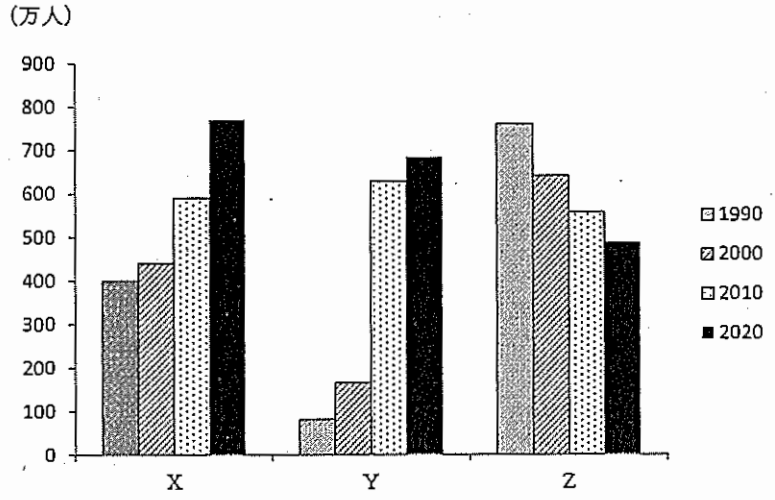

『2022/2023 世界国勢図会』矢野恒太記念会

図３

	ア	イ	ウ	エ	オ	カ
インド	X	X	Y	Y	Z	Z
オーストラリア	Y	Z	X	Z	X	Y
スペイン	Z	Y	Z	X	Y	X

（９）オーストラリアの働きかけによって 1989 年に成立した、環太平洋地域の経済協力組織を何というか、アルファベットで答えよ。

７　南アジア・西アジアについて、下の（１）～（10）の各問いに答えなさい。

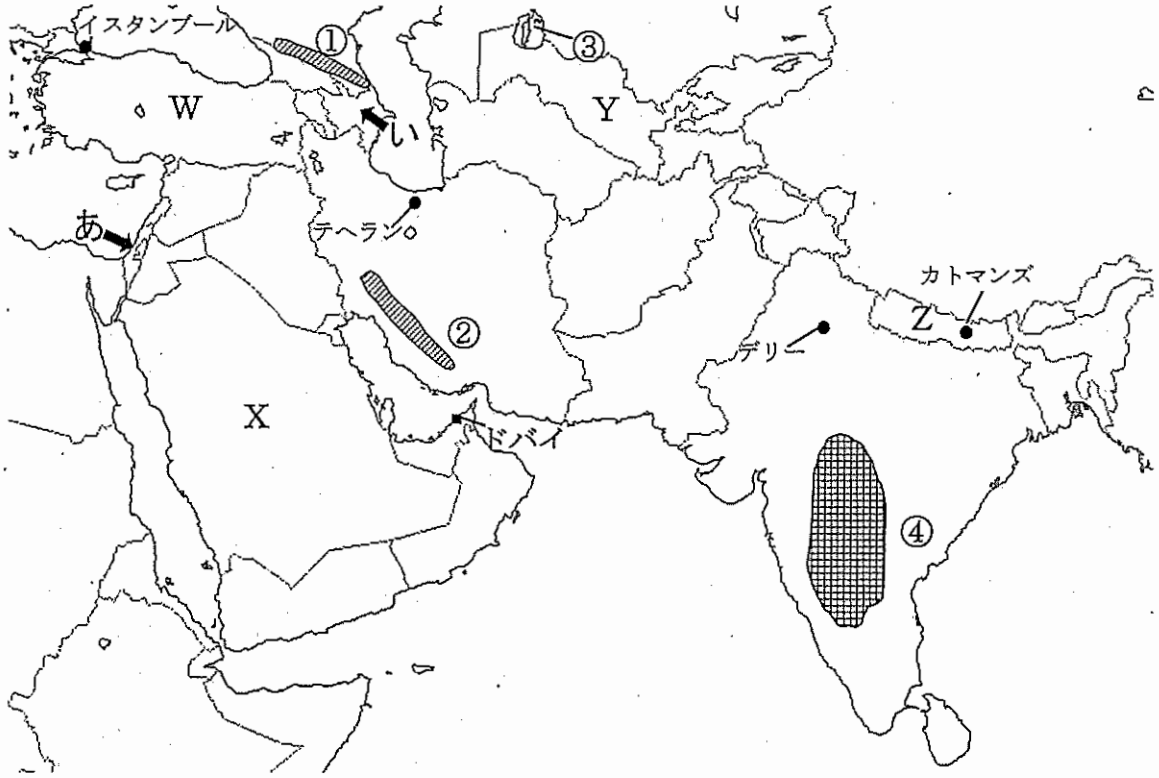

図１

（１）図１中の①・②の山脈名、③の湖名、④の高原名をそれぞれ答えよ。

（２）次の図２中のア～エは、図１中のイスタンブール、カトマンズ、テヘラン、デリーのいずれかの都市における月平均気温と月降水量の年変化を示したものである。イスタンブールとカトマンズに該当するものをそれぞれ１つずつ選び、記号で答えよ。

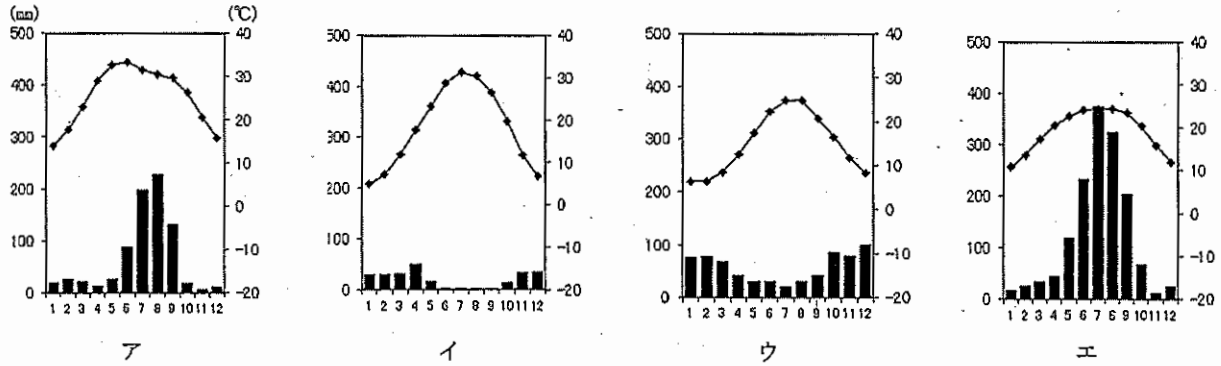

『理科年表』国立天文台編

図２

（３）次の表１は、図１中のW、X、Y、Zの各国の家畜の頭数を示している。W、Z国に該当するものを表中のア～エからそれぞれ１つずつ選び、記号で答えよ。

表１

	牛（千頭）	豚（千頭）	羊（千頭）	鶏（百万羽）
ア	13,154	52	18,829	61.3
イ	17,965	1	42,127	379.3
ウ	700	—	9,447	202.4
エ	7,459	1,520	806	82.6

『2022/2023 世界国勢図会』矢野恒太記念会

（４）次の表２のア～エは図１中のW、X、Y、Zの各国15歳以上の産業別就業者割合（ILO推定、15歳以上、2019年、単位：%）と労働力率（ILO推定、15歳以上、2020年、単位：%）を示したものである。W、X国に該当するものをそれぞれ１つずつ選び、記号で答えよ。

表２

	ア	イ	ウ	エ
農業・林業・漁業	64.4	2.4	18.1	25.7
鉱業・採石	0.1	0.1	0.4	0.6
製造業	8.0	8.5	18.3	12.3
電気・ガス・水道	0.4	1.3	1.0	0.9
建設	6.6	14.0	5.5	9.2
卸売・小売	6.3	14.6	14.0	9.8
運輸・情報通信	2.5	4.5	5.3	5.0
宿泊・飲食	2.5	4.5	6.1	2.1
金融・保険	0.3	1.1	1.1	0.5
不動産・専門サービス	1.0	5.7	7.6	1.6
公務・社会保障	0.8	13.8	7.0	5.8
教育	2.2	10.1	6.4	6.8
医療・福祉	0.4	5.5	5.3	3.7
労働力率（%）	77.4	61.0	49.3	57.6

『2022/2023 世界国勢図会』矢野恒太記念会

＊その他に不明・分類不能などがあるため、合計しても100%にならない。専門サービスには法律や会計サービス等、科学・技術サービス、広告や市場調査等、管理支援サービス（物品賃貸や職業紹介、警備など）を含む。

（５）図１中のW、X、Y、Zの各国の公用語について述べた文として誤っているものを、次のア～エから１つ選び、記号で答えよ。

ア．W国では、アルタイ語族に属している言語が使用されている。
イ．X国では、アフリカ・アジア語族に属している言語が使用されている。
ウ．Y国では、シナ・チベット語族に属している言語が使用されている。
エ．Z国では、インドヨーロッパ語族に属している言語が使用されている。

（６）次の写真１は図１中のドバイのリゾート島の写真、写真２はドバイのショッピングモールの中にある屋内スキー場の写真である。また、図３はドバイの人口ピラミッドとその特徴を示すものである。このような人口構成になった理由を写真と関連させながら、次の語句をすべて使って説明せよ。ただし、指定された語句には下線を引くこと。

【　語句　】　低賃金　・　脱却　・　観光開発

写真１



写真２

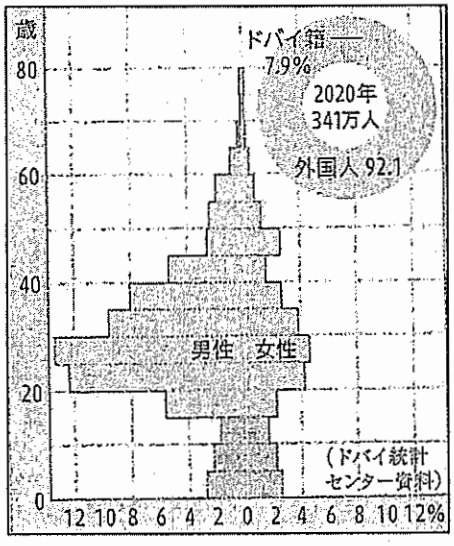

『最新地理図表　GEO』第一学習社

図３

（７）次の表３は日本のおもな輸入品の輸入相手国（2021 年）を示したものである。表中のＡ～Ｃには、アラブ首長国連邦、イスラエル、カタールのいずれかが入るが、Ａ～Ｃに入る国の組み合わせとして正しいものを、下のア～カから１つ選び、記号で答えよ。

表３

品　目	主要な輸出品とその割合（%）
ダイヤモンド	インド 49.0　ボツワナ 14.3　（　Ａ　）11.6　ベルギー9.6　香港 4.9
液化天然ガス	オーストラリア 36.0　マレーシア 12.5　アメリカ 11.0　（　Ｂ　）11.0　ロシア 8.7
アルミニウムと同合金	ロシア 16.6　オーストラリア 13.7　（　Ｃ　）13.3　中国 13.0　ニュージーランド 5.2

『2023 年版　地理統計　Plus』　帝国書院、『データブック オブ・ザ・ワールド 2023 年版』　二宮書店

	ア	イ	ウ	エ	オ	カ
Ａ	イスラエル	イスラエル	アラブ首長国連邦	アラブ首長国連邦	カタール	カタール
Ｂ	アラブ首長国連邦	カタール	イスラエル	カタール	イスラエル	アラブ首長国連邦
Ｃ	カタール	アラブ首長国連邦	カタール	イスラエル	アラブ首長国連邦	イスラエル

（８）次の文章は図１中の「あ」の地方の民族問題について述べたものである。文章を読み、（A）～（D）に適語を記入せよ。

> 現在のイスラエル一帯は、古来（　A　）とよばれ、アラブ系の（A）人と（　B　）人が共存してきた。1947年の国連決議による（A）分割案を受けて、翌年（B）人によりイスラエルが建国されたが、これに反発する周辺のアラブ諸国とイスラエルの間に、数次にわたる戦争が行われてきた。
>
> （A）人は1964年に（　C　）を結成して抵抗運動を続け、1994年にはガザ地区などで（C）主導の自治がはじまり、（A）暫定自治政府も誕生した。しかしその後も、聖地（　D　）の帰属などをめぐり、対立はおさまっていない。

（９）図１中の「い」の地域にみられる人種・民族問題について述べた文として正しいものを、次のア～エから１つ選び、記号で答えよ。

ア．タミル人の分離独立運動が高まり、多数派のシンハラ人との武力闘争へと発展した。2009年にシンハラ政府軍がタミル人地域を完全に制圧し、内戦は終結している。

イ．キリスト教徒のアルメニア人の独立を宣言したことを契機に係争地となっており、2020年にも軍事衝突して多数の犠牲者を出した。

ウ．この地方を治めていた藩王がヒンドゥー教徒であったが、地方の帰属を巡り、多数派のムスリムの住民と対立し、周辺諸国の領有をめぐる争いへ発展した。

エ．クルディスタンとよばれる、国境を越えたクルド人の居住地域があり、民族統一独立運動を国の政府が弾圧している。

(10)次の写真３は図１中の③の湖底が陸地化した写真である。③は1900年代後半から湖水面積が４分の１ほどに縮小しているが、この理由について説明せよ。



『新編地理資料 2023』とうほう

写真３

令和6年度佐賀県公立学校教員採用選考試験
専門試験Ⅰ　解答用紙

高等学校教諭等

地理歴史
地　　理

令和６年度佐賀県公立学校教員採用選考試験
専門試験Ⅰ　解答用紙及び解答例

高等学校教諭等　地理歴史　共　通

受験番号

1

(1)	(2)	(3)	(4)	(5)
ウ	イ	エ	ア	ウ
(6)	(7)	(8)	(9)	(10)
ウ	イ	ウ	ウ	イ
(11)	(12)	(13)	(14)	(15)
ア	エ	ア	ウ	ウ
(16)	(17)	(18)	(19)	(20)
エ	ア	ウ	エ	ア

各2点（20問40点）

令和６年度佐賀県公立学校教員採用選考試験
専門試験Ⅰ　解答用紙及び解答例

高等学校教諭等　地理歴史　地　理

受験番号

2

(1)	①	分類	卓状地	名称	ケスタ				
	②	アパラチア山脈、ペニン山脈				③	ウ		
(2)	①	A	火災（火事・延焼・類焼）	B	津波	C	変動	②	北アメリカプレート
(3)	ウ								
(4)	寒流が流れており、水温が低いため。								
(5)	エ								
(6)	イ								
(7)	①	海岸段丘		②	２万５０００分の１				
	③	ラグーン（潟湖）		④	ア				

(2)①(5)(7)②は各１点、(1)(2)②(3)(4)(6)(7)①③④は各２点 ※(1)②は完答　16問27点

高等学校教諭等　地理歴史　地　理

受験番号

3

(1)	①	イ	②	C	因子	D	熱赤道
	③	P	④	ウ			
	⑤	カラクーム砂漠 タクラマカン砂漠					
(2)	往路	(北東) 貿易風	復路	偏西風	(3)	エ	
(4)	①	ア	②	エ	③	あ レス	い 小麦　う 混合
	④	オ					
(5)	①	i イ	ii ヘ	② ウ			
(6)	首都圏の浸水被害を防止するために建設された地下放水路。						

(1)②(2)(4)③(5)は各１点、(1)①③④⑤(3)(4)①②④(6)は各２点 ※(1)⑤は完答　19問28点

令和６年度佐賀県公立学校教員採用選考試験
専門試験Ⅰ　解答用紙及び解答例

高等学校教諭等　地理歴史　地　理

受験番号

4

(1)	T		(2)	イ							
(3)	①	ブラジル									
	②	合成ゴムの普及で天然ゴムの価格が低迷したため。						世界的な油脂の消費拡大でパーム油の需要が増加したから。			
	③	イ	④	フェアトレード		(4)	エ				
(5)	オ		(6)	ア	パキスタン	イ	タイ		(7)	ウ	
(8)	エ		(9)	カ		(10)	カ				

(3)①④は各1点、(1)(2)(3)②③(4)(5)(6)(7)(8)(9)(10)は各2点　15問28点

高等学校教諭等　地理歴史　地　理

受験番号

5

(1)	エ						
(2)	①	第２次ベビーブーム (ベビーブーム)	②	ワークライフバランス			
(3)	アメリカ	D	韓国	B			
(4)	①	C ⇒ B ⇒ A	②	ウ	③	ウ	
(5)	ハンブルク	イ	ブダペスト	ウ			
(6)	囲郭都市 (城郭・城壁・城塞都市)	(7)	ウ				
(8)	①	ジェントリフィケーション	②	ドックランズ			
(9)	Y						
(10)	気温差が大きい乾燥地域では外気の影響が少なくなるように、窓を小さくしている。						
(11)	イ						
(12)	ア						

(2)(4)②③(5)(6)(8)は各1点、(1)(3)(4)①(7)(9)(10)(11)(12)は各2点　18問27点

高等学校教諭等　地理歴史　地　理

受験番号

6

(1)	エ								
(2)	あ	ホットスポット	い	海水面が上昇	う	フランス			
	え	インド	お	ニッケル					
(3)	イ	(4)	c	(5)	英語	マオリ語			
(6)	イ	(7)	ア	イギリス	イ	日本	(8)	オ	
(9)	ＡＰＥＣ								

(2)(9)は各１点、(1)(3)(4)(5)(6)(7)(8)は2点 ※(5)は完答　15問22点

7

(1)	①	カフカス山脈	②	ザグロス山脈	③	アラル海	④	デカン高原	
(2)	イスタンブール	ウ	カトマンズ	エ					
(3)	W	イ	Z	エ	(4)	W	ウ	X	イ
(5)	ウ								
(6)	石油に依存した経済からの脱却を図るために観光開発等を進めたが、労働力不足を低賃金の外国人労働者で補填しているため20歳代の男性の割合が高い。								
(7)	イ								
(8)	A	パレスチナ	B	ユダヤ	C	PLO (パレスチナ解放機構)	D	エルサレム	
(9)	イ								
(10)	綿花栽培のために、アムダリア川・シルダリア川からの取水が増え、アラル海への流入量が減少したため。								

(1)(2)(5)(8)は各1点、(3)(4)(7)(9)(10)は各2点、(6) は3点　19問28点

令和6年度佐賀県公立学校教員採用選考試験

専門試験Ⅰ　問題

高等学校教諭等

地理歴史

世　界　史

令和６年度佐賀県公立学校教員採用選考試験
専門試験Ⅰ　問題

高等学校教諭等　地理歴史
共　通

１　次の（1）～（20）の各問いに答えなさい。

（1）法学研究で有名な、北イタリアに現存する最古の大学を、次のア～エの中から一つ選び、記号で答えよ。
ア．サレルノ大学　イ．オクスフォード大学　ウ．ボローニャ大学　エ．ケンブリッジ大学

（2）明の時代に中書省の廃止などによって皇帝独裁体制を強化した人物を、次のア～エの中から一つ選び、記号で答えよ。
ア．光武帝　イ．洪武帝　ウ．光緒帝　エ．宣統帝

（3）東西貿易で繁栄し、東南アジアのイスラーム化の拠点となった港市国家を、次のア～エの中から一つ選び、記号で答えよ。
ア．パガン朝　イ．マジャパヒト王国　ウ．スコータイ朝　エ．マラッカ王国

（4）1534 年、イギリスのヘンリ８世の時代に成立しイギリス国教会の成立に大きな影響を与えた法律を、次のア～エの中から一つ選び記号で答えよ。
ア．首長法　イ．統一法　ウ．航海法　エ．審査法

（5）産業革命期のイギリスにおいて、多軸紡績機と水力紡績機のそれぞれの長所を取り入れたミュール紡績機を発明した人物を、次のア～エの中から一つ選び記号で答えよ。
ア．ジョン＝ケイ　イ．アークライト　ウ．クロンプトン　エ．カートライト

（6）第一次世界大戦後の国際協調の機運が高まる中で 1925 年に締結された、ドイツと西欧諸国との国境の現状維持と相互保障が決められた条約を、次のア～エの中から一つ選び記号で答えよ。
ア．サン＝ステファノ条約　イ．九カ国条約　ウ．ロカルノ条約　エ．不戦条約

（7）1949 年、相沢忠洋によって群馬県で発見され、日本の旧石器時代解明の端緒となった遺跡を、次のア～エの中から一つ選び、記号で答えよ。
ア．三内丸山遺跡　イ．岩宿遺跡　ウ．纒向遺跡　エ．池上曽根遺跡

（8）大宝律令の編纂に深く関わった人物を、次のア～エの中から一つ選び、記号で答えよ。
ア．厩戸王　イ．舎人親王　ウ．刑部親王　エ．草壁皇子

（9）応仁の乱は、守護の勢力争いに将軍継嗣問題が絡んで始まったが、その将軍として正しいものを、次のア～エの中から一つ選び、記号で答えよ。
ア．足利尊氏　イ．足利義満　ウ．足利義政　エ．足利義昭

（10）もとは安芸の国人で、中国地方のほぼ全域を一代で制覇し、大国を築き上げた戦国大名を、次のア～エの中から一つ選び、記号で答えよ。
ア．大内義隆　イ．毛利元就　ウ．大友義鎮　エ．北条早雲

（11）江戸時代中期に設立された佐賀藩の藩校を、次のア～エの中から一つ選び、記号で答えよ。
ア．弘道館　イ．興譲館　ウ．造士館　エ．明倫館

（12）岩倉使節団に随行し、『特命全権大使米欧回覧実記』を著した人物を、次のア～エの中から一つ選び、記号で答えよ。
ア．大隈重信　イ．佐野常民　ウ．山口尚芳　エ．久米邦武

（13）1951 年、サンフランシスコ講和会議に招待されなかった国を、次のア～エの中から一つ選び、記号で答えよ。
ア．中華人民共和国　イ．ソ連　ウ．イギリス　エ．インド

（14）位置情報を持ったデータを総合的に管理・加工し、電子地図上に地図や図形など視覚的に表示する位置情報システムを何というか、次のア～エの中から一つ選び、記号で答えよ。
ア．GNSS　イ．GPS　ウ．GIS　エ．VICS

（15）学校に通う子どもが学校を休み、保護者とともに家庭や地域で体験、探究の学び・活動を自ら考え、企画・実行する制度を何というか、次のア～エの中から一つ選び、記号で答えよ。
ア．ワーケーション　イ．アクティブバケーション　ウ．ラーケーション　エ．バーチャルツアー

（16）観光客の著しい増加等が、地域住民の生活や自然環境、景観等に対して受忍限度を超える負の影響をもたらしたり、観光客の満足度を著しく低下させるような状況を何というか、次のア～エの中から一つ選び、記号で答えよ。
ア．サスティナブルツーリズム　イ．エシカルツーリズム　ウ．ネイチャーツーリズム　エ．オーバーツーリズム

(17) 2022年の日本における新生児の出生数は、統計を取り始めた１８９９年以降最低となったが、その数字に一番近いものを次のア～エの中から一つ選び、記号で答えよ。

ア．８０万人　　イ．１２０万人　　ウ．１６０万人　　エ．２００万人

(18) 近年、コンビニエンスストアでは、配送の効率化や知名度を上げる方法として、一つの地域に集中させる出店方式がみられる。このような出店方式は何とよばれるか。次のア～エの中から一つ選び、記号で答えよ。

ア．拠点開発方式　イ．センターピボット方式　ウ．ドミナント方式　エ．フランチャイズ方式

(19) 青少年の相互交流を目的に、滞在期間中の旅行費用を補うため、一定の範囲内で働くことを互いに認め合う二国間の取り決めを何というか。次のア～エの中から一つ選び、記号で答えよ。

ア．シェンゲン協定　イ．Trips協定　ウ．ハーグ条約　エ．ワーキングホリデー制度

(20) 次の表１は日本の海面・内水面養殖における収穫量の多い上位都道府県を示している。何の養殖か、下のア～エの中から一つ選び、記号で答えよ。

表１

養殖収穫量（2020年，ｔ） 全国（16806）	鹿児島（7057），愛知（4315），宮崎（2856），静岡（1536），徳島（243）

『データブックオブ・ザ・ワールド2023年版』　二宮書店

ア．うなぎ　イ．かき　ウ．ぶり　エ．ます

地理歴史
高等学校教諭等
世 界 史

２　次のＡ～Ｇの各文章を読んで、文中（　１　）～（　３　）に適語を記し、問１～問 19 の各問いに答えなさい。
《引用・参考文献：『世界史探究　詳説世界史教師用指導書　授業実践編』山川出版社》
※なお、出題の都合で一部を書き改めた箇所がある。

文章Ａ

アナトリアという地名は、①ビザンツ帝国期の半島中部地方の州名に由来する。②オスマン帝国時代を経てトルコ共和国が成立すると、共和国東部の③イラク国境にいたる地域を含めて使われるようになった。これに対し、歴史家④ヘロドトスが漠然と東方と意味していたアジアという地名を⑤アケメネス朝の領域まで含めて使用するようになってから、欧米ではこの地域を小アジアと呼び、日本でも慣例的に用いられてきた。

問１　下線部①に関連して、ビザンツ帝国の皇帝について述べた文として正しいものを、次のア～エの中から一つ選び、記号で答えよ。
ア．教皇グレゴリウス７世に破門され、カノッサ城で謝罪した。
イ．ツァーリを正式に名乗り、シベリアの一部も領土に組み入れた。
ウ．ゲルマン人国家のヴァンダル王国や東ゴート王国を滅ぼした。
エ．マジャール人を撃退し、ローマ教皇より帝冠を受けた。

問２　下線部②に関連して、オスマン帝国のスルタンについて述べた次のａ～ｃの正誤の組み合わせとして正しいものを、下のア～クの中から一つ選び、記号で答えよ。
ａ．神聖ローマ帝国と対立していたフランスと同盟を結び、カピチュレーションを与えた。
ｂ．レパントの海戦でヴェネツィアなどの連合軍に勝利し、地中海の制海権を得た。
ｃ．カイロを都としたマムルーク朝を滅ぼし、メッカ・メディナの保護権を獲得した。
ア．ａ－正　ｂ－正　ｃ－正　　イ．ａ－正　ｂ－正　ｃ－誤　　ウ．ａ－正　ｂ－誤　ｃ－正
エ．ａ－正　ｂ－誤　ｃ－誤　　オ．ａ－誤　ｂ－正　ｃ－正　　カ．ａ－誤　ｂ－正　ｃ－誤
キ．ａ－誤　ｂ－誤　ｃ－正　　ク．ａ－誤　ｂ－誤　ｃ－誤

問３　下線部③に関連して、この地に文明を築いたシュメール人が使用した文字とその解読者の組み合わせとして正しいものを、次のア～エの中から一つ選び、記号で答えよ。
ア．楔形文字－シャンポリオン　　イ．楔形文字－ローリンソン
ウ．神聖文字－シャンポリオン　　エ．神聖文字－ローリンソン

問４　下線部④に関連して、歴史の父とよばれたヘロドトスはペルシア戦争に関する『歴史』を著した。彼が生きた前５世紀の出来事について述べた文として正しいものを、次のア～エの中から一つ選び、記号で答えよ。
ア．アメンホテプ４世が一つの神だけを信仰する改革をおこなった。
イ．ペリクレスの指導のもと、アテネで民主政が実現した。
ウ．剣闘士（剣奴）であるスパルタクスが反乱をおこした。
エ．竜樹（ナーガールジュナ）が大乗仏教を理論化した。

問５　下線部⑤に関連して述べた次のａ～ｃの正誤の組み合わせとして正しいものを、下のア～クの中から一つ選び、記号で答えよ。

ａ．メディアから独立し、アルダシール１世が建国した。
ｂ．ダレイオス１世の時代にペルシア戦争を開始した。
ｃ．ゾロアスター教が信仰され、教典『アヴェスター』が成立した。

ア．ａ－正　ｂ－正　ｃ－正　　イ．ａ－正　ｂ－正　ｃ－誤　　ウ．ａ－正　ｂ－誤　ｃ－正
エ．ａ－正　ｂ－誤　ｃ－誤　　オ．ａ－誤　ｂ－正　ｃ－正　　カ．ａ－誤　ｂ－正　ｃ－誤
キ．ａ－誤　ｂ－誤　ｃ－正　　ク．ａ－誤　ｂ－誤　ｃ－誤

文章Ｂ

ラージプートは、西部インドから北インドにかけていくつもの王朝を樹立した者たちの総称である。彼らの盛期であった⑥８～12世紀は、ラージプート時代ともいわれている。通常、⑦グプタ朝とその後のヴァルダナ朝以降からデリー＝スルタン朝までの時期は、まとまりのない複雑な動きを示すインドの暗黒時代とされているが、実際にはこのラージプート勢力のように、各地で多くの地方王権がたがいに勢力争いをしながら活動していた。そのような中で、彼らはイスラームの進出に敗れ去り、その結果、南アジアは、⑧北インドを中心としてイスラーム勢力の支配下に入っていくことになる。

問６　下線部⑥について、８世紀～12世紀はユーラシア各国の大帝国の繁栄と崩壊を経て、周辺民族の自立や遊牧民などの移動もみられた時代であった。８世紀～12世紀におきた出来事について述べた文として正しいものを、次のア～エの中から一つ選び、記号で答えよ。

ア．ウイグル人がタリム盆地へ移住した。
イ．北魏の太武帝が華北を統一した。
ウ．マムルークがアイユーブ朝を滅ぼした。
エ．カペー朝の断絶後、ヴァロワ朝が成立した。

問７　下線部⑦に関連して、グプタ朝の文化について述べた文として正しいものを、次のア～エの中から一つ選び、記号で答えよ。

ア．ヘレニズム文化の影響を受け、初めて仏像がつくられた。
イ．宮廷詩人カーリダーサにより、戯曲『シャクンタラー』がつくられた。
ウ．中国（東晋）の僧法顕が訪れ、ナーランダー僧院で学んだ。
エ．ダルマによる統治をめざし、初めてセイロン島に仏教を伝えた。

問８　下線部⑧に関連して、北インドを中心にイスラーム勢力を拡大させたムガル帝国では、帝国の領域が最大に達した時の皇帝により、ある宗教政策がおこなわれた。その政策について、次の条件に従って40字以内で説明せよ。

〈条件〉皇帝の名前、宗教政策の具体例、宗教政策の結果を書くこと

文章Ｃ

フォロ＝ロマーノは元老院など⑨共和政ローマの中心がおかれていた広場の遺跡である。エトルリア王の支配した時代は市場が設けられたが、ラテン人による共和政時代に入ってからは数多くの神殿が建設されるようになった。カルタゴとの（　１　）戦争による中小農民の流入にともなって、前２世紀に隣接地区に市場の建造物が造られたことにより、この広場は政治・行政機能の中枢の役割を担うようになった。前１世紀後半になると、カエサルにより新しいフォルムが計画され、⑩アウグストゥス以後の帝政時代には、帝国の象徴的な意味をもつ広場となっていった。

問９　下線部⑨に関連して、共和政期のローマでおきた貴族と平民との身分闘争の結果、平民の権利が認められた経緯について、次の条件に従って150字程度で説明せよ。

〈条件１〉「コンスル」、「国法」の語句を必ず用いること

〈条件２〉前５世紀半ば～前３世紀までの内容を説明すること

問10　下線部⑩に関連して、以下の問いに答えよ。

（１）帝政時代のローマについて述べた次のａ～ｃの正誤の組み合わせとして正しいものを、下のア～クの中から一つ選び、記号で答えよ。

ａ．アウグストゥスは元首政を開始し、元老院などの共和政の制度を廃止した。

ｂ．カラカラ帝は帝国の全自由人にローマ市民権を与え、『ローマ法大全』を編纂させた。

ｃ．コンスタンティヌス帝の時代にニケーア公会議が開催され、ネストリウス派が異端とされた。

ア．ａ－正　ｂ－正　ｃ－正　　イ．ａ－正　ｂ－正　ｃ－誤　　ウ．ａ－正　ｂ－誤　ｃ－正

エ．ａ－正　ｂ－誤　ｃ－誤　　オ．ａ－誤　ｂ－正　ｃ－正　　カ．ａ－誤　ｂ－正　ｃ－誤

キ．ａ－誤　ｂ－誤　ｃ－正　　ク．ａ－誤　ｂ－誤　ｃ－誤

（２）アウグストゥス時代はラテン文学の黄金時代と評されている。ローマ建国叙事詩である『アエネイス』を著した人物を答えよ。

文章Ｄ

大きな三角帆を備えた木造のダウ船は、インド洋交易をさかんに展開した⑪ムスリム商人によって利用された。航法はインド洋海域に吹く季節風（モンスーン）を利用するもので、船が寄港する港にも繁忙期と閑散期があった。モンスーンという言葉自体、⑫アラビア語で「季節」を意味する「mawsim」から派生しており、インド洋を往来していたムスリム商人の多くは、アラブ人やイラン人であった。彼らは⑬東アフリカ・インド亜大陸・⑭東南アジアを結ぶ交易ネットワークを構築した。

問11　下線部⑪に関連して、マムルーク朝の保護下で、紅海を利用して東西交易をおこなったムスリム商人団を答えよ。

問12　下線部⑫に関連して、イスラーム教徒の学問が発達したのは、ギリシア語の文献がアラビア語に組織的に翻訳されたことが一因とされる。ムワッヒド朝において、法官や宮廷医として仕え、『政治学』を除くアリストテレスの全著作を注釈し、中世ヨーロッパのスコラ学に影響を与えたイスラーム世界の学者を答えよ。

問13　下線部⑬に関連して、以下の問いに答えよ。

（１）アラビア語の影響を受けた東アフリカの広域の共通語で、商業上の必要からうまれた言語を答えよ。

（２）鄭和の艦隊が訪れた東アフリカの都市として正しいものを、次のア～エの中から一つ選び、記号で答えよ。

ア．ジンバブエ　　イ．メロエ　　ウ．マラケシュ　　エ．マリンディ

地理歴史
高等学校教諭等
世 界 史

問 14　下線部⑭に関連して、中国の求法僧の中にはインドへの往復の途中で東南アジアの国々に立ち寄ったものもいる。唐の義浄もその一人で、彼はある国に立ち寄った際、その地で大乗仏教が盛んに信仰されていたことを『南海寄帰内法伝』に記した。この国の都について、その名称と地図中の場所の組み合わせとして正しいものを、次のア～エの中から一つ選び、記号で答えよ。

ア．パレンバンーX　　イ．パレンバンーY　　ウ．オケオーX　　エ．オケオーY

文章Ｅ

トンブクトゥは北はサハラ砂漠からのラクダ隊商の終着点として、南はニジェール川の船上輸送の終結地として 14～16 世紀を中心に交易で繁栄した。その経済力は「黄金の国」（　2　）王国の繁栄を支え、ソンガイ王国の時代に最盛期を迎えたが、商業の発展とともにムスリム商人の人口も増加し、イスラーム学者も数多く往来するようになった。⑮マドラサやモスクもつくられて宗教都市としても繁栄した。

問 15　下線部⑮に関連して、代表的なマドラサの一つであるニザーミーヤ学院を設立した王朝について述べた文として正しいものを、次のア～エの中から一つ選び、記号で答えよ。

ア．コルドバに都をおき、ファーティマ朝に対抗してカリフを名のった。
イ．ベルベル人の王朝で、内陸アフリカにイスラームを広める道を開いた。
ウ．トルコ系の王朝で、中央アジアのサーマーン朝を滅ぼした。
エ．ブワイフ朝を倒し、アッバース朝のカリフからスルタンの称号を与えられた。

文章Ｆ

1226 年に（　3　）は⑯神聖ローマ皇帝から特許状を得て、帝国内で諸侯と同等の地位を獲得した。自治権を得た（　3　）は皇帝や諸侯などの軍事力に対抗し商業上の利益を守るため、⑰ハンザ同盟を北ドイツ諸都市と結び、その盟主となった。この同盟は 14 世紀に北ヨーロッパ商業圏を支配し、大きな政治勢力になった。他方、イギリスやフランスの諸都市は国王との結びつきが強く、のち王権の伸張とともに国王の行政の中心地として成長していった。

問 16　下線部⑯に関連して、以下の問いに答えよ。

（1）次の資料は神聖ローマ皇帝が発布したものである。この文書を何というか答えよ。
（なお、資料は一部書き改め、省略したところがある。）

神聖帝国に空位がおこるような場合には……マインツ大司教が、他の諸侯たち、つまり選帝侯団を、文書によって、かの選挙に招集するという権限を持つ。……マインツ大司教が次の順位にしたがって、その同席者たる選帝侯の投票を求めねばならない。

（２）神聖ローマ帝国の歴史に関して述べた次の文ａ～ｃを年代順（古→新）に並べたとき、正しく並んでいるものを下のア～カの中から一つ選び、記号で答えよ。

ａ　フリードリヒ１世が第３回十字軍に参加した。
ｂ　ジギスムントの提唱でコンスタンツ公会議が開かれた。
ｃ　帝位が事実上空位となる「大空位時代」がおこった。

ア．ａ → ｂ → ｃ　　イ．ａ → ｃ → ｂ　　ウ．ｂ → ａ → ｃ
エ．ｂ → ｃ → ａ　　オ．ｃ → ａ → ｂ　　カ．ｃ → ｂ → ａ

問 17　下線部⑰に関連して、ハンザ同盟の勢力に対抗し、カルマル同盟を結んだデンマークの指導者を答えよ。

文章Ｇ

大憲章は、ジョン王がイングランド諸侯に強制されて署名した特許状であり、⑱中世イングランドにおける国王と諸侯・⑲教会・都市とのあいだの権利義務関係を定めた法典である。軍役免除金や御用金が諸侯の会議による同意なくして課税しえないこと（12 条）や法に基づかない人身拘束の禁止（39 条）などを定めた。

問 18　下線部⑱に関連して、イングランドの歴史に関係する次の【説明文Ⅰ】～【説明文Ⅲ】を年代順（古→新）に並べたとき、正しく並んでいるものを下のア～カの中から一つ選び、記号で答えよ。

【説明文Ⅰ】

ノルマンディー公ウィリアムはヘースティングズの戦いでイングランドを征服し、ウィリアム１世として即位した。

【説明文Ⅱ】

ジョン＝ボールは２万人以上集まった民衆の前で演説した。「アダムが耕しイヴが紡いだ時、ジェントルマンはいただろうか、すべての人間は生来、平等である。農奴制は神の意志に反し、邪悪な人々の不正な圧政により導入されたものだ…」

【説明文Ⅲ】

エドワード１世により高位聖職者・大貴族のほかに各地から騎士・市民・下級聖職者の代表が招集され、これがのちに模範的な議会構成とされた。

ア．【説明文Ⅰ】 → 【説明文Ⅱ】 → 【説明文Ⅲ】
イ．【説明文Ⅰ】 → 【説明文Ⅲ】 → 【説明文Ⅱ】
ウ．【説明文Ⅱ】 → 【説明文Ⅰ】 → 【説明文Ⅲ】
エ．【説明文Ⅱ】 → 【説明文Ⅲ】 → 【説明文Ⅰ】
オ．【説明文Ⅲ】 → 【説明文Ⅰ】 → 【説明文Ⅱ】
カ．【説明文Ⅲ】 → 【説明文Ⅱ】 → 【説明文Ⅰ】

問 19　下線部⑲に関連して、14 世紀初めにおける教皇権の衰退について、これを象徴する出来事に触れながら次の語句を必ず用いて 160 字以内で説明せよ。

〈語句〉 アヴィニョン　課税　フィリップ４世

高等学校教諭等　地理歴史
世 界 史

３　次のＡ～Ｄの文章は「中国の歴史」について述べたものである。各文章を読んで、問１～問 15 の各問いに答えなさい。
《引用・参考文献：『詳説世界史Ｂ』（帝国書院）》
※なお、出題の都合で一部を書き改めた箇所がある。

文章Ａ

春秋時代までに、①周の諸侯が治める地域では、②漢字をはじめとする周の文化や価値観が共有されるようになった。さらに戦国時代には、この範囲をまとまった一つの世界と考える意識が強まった。これを当時の表現では「天下」という。戦国時代の「天下」の範囲は、前漢武帝期以降「中国」と称されるようになる。

問１　下線部①に関連して述べた次のａ～ｃの正誤の組み合わせとして正しいものを、下のア～クの中から一つ選び、記号で答えよ。

ａ．周の武王は殷の紂王から禅譲され、鎬京に都をおいて華北を支配した。
ｂ．鉄製農具や牛耕農法が普及し、統一貨幣である半両銭が使用された。
ｃ．縦横家の蘇秦は秦に対抗するため、６国の連合同盟をとる合従策を説いた。

ア．ａ－正　ｂ－正　ｃ－正　　イ．ａ－正　ｂ－正　ｃ－誤　　ウ．ａ－正　ｂ－誤　ｃ－正
エ．ａ－正　ｂ－誤　ｃ－誤　　オ．ａ－誤　ｂ－正　ｃ－正　　カ．ａ－誤　ｂ－正　ｃ－誤
キ．ａ－誤　ｂ－誤　ｃ－正　　ク．ａ－誤　ｂ－誤　ｃ－誤

問２　下線部②に関連して、漢字に関係のある次の【説明文Ⅰ】～【説明文Ⅲ】を年代順（古→新）に並べたとき、正しく並んでいるものを、次のア～カの中から一つ選び、記号で答えよ。

【説明文Ⅰ】
顔真卿はそれまでの典雅な書風に対し、革新的な力強い書風をおこした。

【説明文Ⅱ】
王羲之は楷書・行書・草書で、格調高く調和のとれた書体を確立した。

【説明文Ⅲ】
漢字をもとに作成された字喃（チュノム）がベトナムで使用されるようになった。

ア．【説明文Ⅰ】　→　【説明文Ⅱ】　→　【説明文Ⅲ】
イ．【説明文Ⅰ】　→　【説明文Ⅲ】　→　【説明文Ⅱ】
ウ．【説明文Ⅱ】　→　【説明文Ⅰ】　→　【説明文Ⅲ】
エ．【説明文Ⅱ】　→　【説明文Ⅲ】　→　【説明文Ⅰ】
オ．【説明文Ⅲ】　→　【説明文Ⅰ】　→　【説明文Ⅱ】
カ．【説明文Ⅲ】　→　【説明文Ⅱ】　→　【説明文Ⅰ】

文章Ｂ

前漢では、武帝の代までに中央集権化と③匈奴からの自立に成功したが、対外戦争は財政難を招いた。中央では、外戚と宦官が権力を握るようになり、④後漢が成立した後も、宦官による反対派の官僚・学者が弾圧される（　⑤　）がおきた。

後漢が滅びると中国大陸では政治的分裂の時代に入り、遊牧民と漢人の諸勢力が抗争や提携を繰り広げた。約 370 年にわたる⑥魏晋南北朝時代は、諸民族が入り乱れるなかで華北・江南それぞれにおいて新たな制度・社会がつくり出されていった。

高等学校教諭等　地理歴史
世 界 史

問３　下線部③に関連して、以下の問いに答えよ。

（１）匈奴と関係の深い出来事について述べた文として誤っているものを、次のア～エの中から一つ選び、記号で答えよ。

ア．秦は長城の修築をおこない、匈奴の侵入に対抗した。
イ．劉邦は匈奴の冒頓単于に敗れ、和議を結んだ。
ウ．李広利は匈奴を挟撃するために大月氏に派遣された。
エ．西晋は八王の乱に乗じて台頭した匈奴に滅ぼされた。

（２）匈奴との和親策の犠牲となった女性の悲劇を題材とした元曲を、次のア～エの中から一つ選び、記号で答えよ。

ア．『紅楼夢』　イ．『漢宮秋』　ウ．『西廂記』　エ．『金瓶梅』

問４　下線部④に関連して、後漢の時代について述べた文として正しいものを、次のア～エの中から一つ選び、記号で答えよ。

ア．諸侯への抑圧策をはかったことにより、呉楚七国の乱が勃発した。
イ．董仲舒の建言により、五経博士の設置や儒学の官学化がおこなわれた。
ウ．西域都護である班超が、部下の甘英を大秦国に派遣した。
エ．衛氏朝鮮を滅ぼし、朝鮮に楽浪郡などを設置した。

問５　文章中の空欄（　⑤　）に当てはまる語句を答えよ。

問６　下線部⑥に関連して、三国時代の魏で始まった官吏任用制度の内容と導入後の社会変化を、制度の名称を明らかにしながら70字以内で説明せよ。

文章Ｃ

隋は南北を統一して大運河・都城・科挙など新たな帝国統治のしくみを生み出し、これを受け継いで完成させた⑦唐はユーラシア東方の世界帝国となった。その首都長安はユーラシアの国際都市となり、⑧多くの海港は交易で繁栄した。

問７　下線部⑦に関連して、唐の節度使は８世紀半ば以降に強大な権力を持つようになった。その経緯について、８世紀半ばの出来事を明らかにしながら次の語句を必ず用いて、60字以内で説明せよ。

〈語句〉　藩鎮

問８　下線部⑧に関連して、唐の時代に広州に設置された海上交易全般を管理した官庁を答えよ。

文章Ｄ

10世紀以降、契丹・⑨女真など中央ユーラシアの新たな勢力が強大化し、日本・⑩高麗など東アジア諸地域でも政治的・文化的自立が進み、これらと⑪宋が並び立つ新しい国際情勢が形づくられた。

13世紀から14世紀前半は、⑫モンゴルの支配のもと、ヨーロッパから東アジアにいたるユーラシア大陸の全域で、経済・文化の広域的な交流がすすんだ。そのモンゴルを従え、⑬明を継承した⑭清は、⑮チベット仏教文化圏と儒教・漢字圏の覇者となる世界帝国に発展し、清の皇帝は多くの顔をもつ支配者として君臨した。

高等学校教諭等　地理歴史
世界史

問９　下線部⑨に関連して述べた次の文章の空欄〔　a　〕と〔　b　〕に当てはまる語句の組み合わせとして正しいものを、下のア～エの中から一つ選び、記号で答えよ。

> 契丹の支配下にあった女真人は〔　a　〕を指導者として独立し、金を建てた。金は宋と手を結んで遼（契丹）を攻めた後に、開封を占領した。このとき欽宗の弟高宗が江南に逃れ、〔　b　〕を都に南宋を建てた。

ア．ａ－完顔阿骨打　ｂ－建康　　イ．ａ－完顔阿骨打　ｂ－臨安
ウ．ａ－耶律阿保機　ｂ－建康　　エ．ａ－耶律阿保機　ｂ－臨安

問 10　下線部⑩に関連して述べた次のａ～ｃの正誤の組み合わせとして正しいものを、下のア～クの中から一つ選び、記号で答えよ。

ａ．王建が建国し、開城を都として半島を統一した。
ｂ．骨品制といわれる氏族的な身分制度をおこなった。
ｃ．禅宗の影響を受けた道教の一派である全真教を国教とした。

ア．ａ－正　ｂ－正　ｃ－正　　イ．ａ－正　ｂ－正　ｃ－誤　　ウ．ａ－正　ｂ－誤　ｃ－正
エ．ａ－正　ｂ－誤　ｃ－誤　　オ．ａ－誤　ｂ－正　ｃ－正　　カ．ａ－誤　ｂ－正　ｃ－誤
キ．ａ－誤　ｂ－誤　ｃ－正　　ク．ａ－誤　ｂ－誤　ｃ－誤

問 11　下線部⑪に関連して、宋代の農業について述べた次のａ～ｃの正誤の組み合わせとして正しいものを、下のア～クの中から一つ選び、記号で答えよ。

ａ．湿地を堤防で干拓した囲田などの水田を造成し、農業面積が拡大した。
ｂ．早稲種で日照りに強い占城稲を導入し、収穫の安定化がはかられた。
ｃ．長江中流域は米の全国的な生産中心地となり、「湖広熟すれば天下足る」といわれた。

ア．ａ－正　ｂ－正　ｃ－正　　イ．ａ－正　ｂ－正　ｃ－誤　　ウ．ａ－正　ｂ－誤　ｃ－正
エ．ａ－正　ｂ－誤　ｃ－誤　　オ．ａ－誤　ｂ－正　ｃ－正　　カ．ａ－誤　ｂ－正　ｃ－誤
キ．ａ－誤　ｂ－誤　ｃ－正　　ク．ａ－誤　ｂ－誤　ｃ－誤

問 12　下線部⑫について、次の【資料Ⅰ】と【資料Ⅱ】、【説明文】を年代順（古→新）に並べたとき、正しく並んでいるものを、下のア～カの中から一つ選び、記号で答えよ。

【資料Ⅰ】ワールシュタットの戦い

【資料Ⅱ】ヴェネツィアから出発するマルコ＝ポーロ一行

【説明文】
中央アジアからイラン方面に勢力を伸ばしていたトルコ系のホラズム＝シャー朝を滅ぼした。

ア．【資料Ⅰ】　→　【資料Ⅱ】　→　【説明文】
イ．【資料Ⅰ】　→　【説明文】　→　【資料Ⅱ】
ウ．【資料Ⅱ】　→　【資料Ⅰ】　→　【説明文】
エ．【資料Ⅱ】　→　【説明文】　→　【資料Ⅰ】
オ．【説明文】　→　【資料Ⅰ】　→　【資料Ⅱ】
カ．【説明文】　→　【資料Ⅱ】　→　【資料Ⅰ】

高等学校教諭等　地理歴史
世界史

問 13　下線部⑬に関連して、明末にマテオ＝リッチが作製した中国最初の世界地図を答えよ。

問 14　下線部⑭について、次の地図は清が統治した領域を示したものである。この地図を見て以下の問いに答えよ。

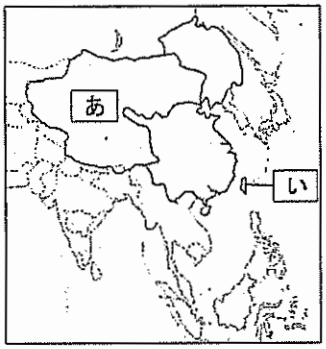

（1）17 世紀に発足し、地図中の［あ］の地域を統轄した中央官庁を答えよ。

（2）地図中の［い］の地域は 1624 年から 1661 年までヨーロッパのある国に占領されていた。その国の名称と、その国の勢力を駆逐し、反清復明運動をおこなった人物の組み合わせとして正しいものを、次のア～エの中から一つ選び、記号で答えよ。

ア．イギリス－李自成　　イ．イギリス－鄭成功　　ウ．オランダ－李自成　　エ．オランダ－鄭成功

問 15　下線部⑮について、チベットの歴史に関して述べた次の a ～ c の正誤の組み合わせとして正しいものを、下のア～クの中から一つ選び、記号で答えよ。

a．ソンツェン＝ガンポが部族を統一し、南詔を建国した。
b．チベット仏教の高僧パスパは、フビライの時代にパスパ文字を作成した。
c．ツォンカパは明の正統帝を土木堡でとらえ、勢力を拡大した。

ア．a－正　b－正　c－正　　イ．a－正　b－正　c－誤　　ウ．a－正　b－誤　c－正
エ．a－正　b－誤　c－誤　　オ．a－誤　b－正　c－正　　カ．a－誤　b－正　c－誤
キ．a－誤　b－誤　c－正　　ク．a－誤　b－誤　c－誤

高等学校教諭等　地理歴史
世 界 史

４　次の文Ａ～Ｄの各文章を読んで、問１～問 22 の各問いに答えなさい。

文章Ａ

イタリア戦争を契機として、15 世紀末から欧州では、新しいタイプの国家体制が姿を現した。①16 世紀になるとこの体制における国家は、国益を追求して他国との戦役を繰り返した。同時期の②宗教改革は単に信仰上の問題だけではなく、教皇からの各国の自立を促しこの国家体制の確立を支えたが、一方で壮絶な③宗教戦争も生み出した。欧州各国の状況を見てみると、④新航路開拓の一翼を担い繁栄した南欧のスペインにかわり、17 世紀にはオランダが国際商業の中心となった。ついで、⑤イギリスとフランスが、重商主義政策をとってオランダを追い上げ、両国は⑥海外に植民地を広げ、欧州のみならず北米やインドでも激しく争った。やがて、これに勝利したイギリスは世界経済の覇権を握ることとなった。

問１　下線部①に関連して、同時期の東アジアでは冊封体制の構築が要因となり、国を超えた戦役はほとんど見られなかった。その例外と考えられる 16 世紀末の事例を、関係する人物名を明らかにしながら簡潔に答えよ。

問２　下線部②に関連して述べた次の文の［　　］にあてはまる内容を簡潔に答えよ。

> 宗教改革の先駆者とされるフスは、信者が教会などを介さず直接キリスト教を理解することを容易にするために［　　］をおこなった。

問３　下線部③に関連して、次の【メモ】は欧州における 17 世紀の宗教戦争の一つに関係の深いものである。この戦争の性格を、次の【メモ】をふまえて 60 字以内で説明せよ。解答の際には、以下の【条件】に留意すること。

【メモ】

> フランスは旧教国であるにもかかわらず、新教勢力と同盟して皇帝と戦い、戦後、アルザス地方を獲得した。

【条件】

> ① この戦争の名称を明らかにすること。
> ② 関係する２つの王家の名称を明らかにすること。

問４　下線部④に関連して、この結果、南米産の銀の各地への流入が世界経済に大きな影響を与えることとなった。それを模式的に示す次の図の［Ⅰ］、［Ⅱ］にあてはまる内容の組み合わせとして正しいものを、次のア～エの中から一つ選び、記号で答えよ。

16 世紀　（→は銀の流れを示している）

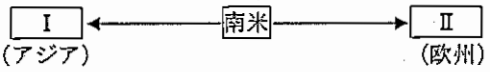

ア．Ⅰ － 一条鞭法が始まった。　Ⅱ － 物価が高騰した。　イ．Ⅰ － 一条鞭法が始まった。　Ⅱ － 物価が下落した。
ウ．Ⅰ － 地丁銀制が始まった。　Ⅱ － 物価が高騰した。　エ．Ⅰ － 地丁銀制が始まった。　Ⅱ － 物価が下落した。

問５　下線部⑤に関連して、イギリスの歴史に関する次の文ア～エを時代順（古→新）に正しく並べたときに、３番目にあたるものを一つ選び、記号で答えよ。

ア．権利の請願が可決された。
イ．『ユートピア』が著された。
ウ．人身保護法が制定された。
エ．ジブラルタルを獲得した。

問６　下線部⑥に関連して、フランスは北米にも植民地を広げた。このことは、現代の北米の政治事情にも大きな影響を与えている。これに関する次の【メモ】の［　　］にあてはまる 17 世紀からのフランスの北米経営の拠点となった地域の名称を答えよ。

【メモ】

> フランス系移民が多く住むカナダ東部の［　　］州は、連邦からの独立を目指す気運が伝統的に強い地域である。この州最大の都市モントリオールでは、フランス語を耳にする機会が非常に多い。

高等学校教諭等　地理歴史
世 界 史

文章Ｂ

⑦市民革命と産業革命という「二重革命」が進行するなかで、欧米諸国では近代市民社会の形成がすすんだ。欧州ではフランス革命に始まる大変動ののち、列強は協力して⑧ウィーン体制による政治の安定を目指すが、ナショナリズムや⑨自由主義的改革への動きを阻止することはできなかった。⑩産業革命は大陸諸国にも広がり、近代工業への移行が開始された。⑪1848年のフランスでの革命の後、列強が国内問題に専念するあいだ、イタリアとドイツは国家の統一に成功した。一方、欧州の干渉を排除したアメリカ合衆国は、⑫安価な労働力としての移民の流入を背景に、経済を急速に発展させていった。

問７　下線部⑦に関連して、18世紀の市民革命に関係の深い次の【資料】が発表された時期として最も適当なものを、下の【年表】のア～エの中から一つ選び、記号で答えよ。

【資料】

> われわれはつぎのことが自明の真理であると信ずる。すべての人は平等につくられ、神によって、一定のゆずることのできない権利を与えられていること。そのなかには生命、自由、そして幸福の追求が含まれていること。これらの権利を確保するために、人類のあいだに政府がつくられ、その正当な権力は被支配者の同意に基づかねばならないこと。もしどんな形の政府であってもこれらの目的を破壊するものになった場合には、その政府を改革しあるいは廃止して人民の安全と幸福をもたらすにもっとも適当と思われる原理に基づき、そのような形で権力を形づくる新しい政府を設けることが人民の権利であること。

【年表】

	ア
1763	パリ条約締結
	イ
1789	バスティーユ牢獄襲撃事件
	ウ
1804	ハイチ独立
	エ

問８　下線部⑧に関連して、ウィーン会議やその結果について述べた文として正しいものを、次のア～エの中から一つ選び、記号で答えよ。

ア．オランダは、セイロン島とケープ植民地を獲得した。
イ．ロシアはフィンランドを獲得した。
ウ．北ドイツ連邦が成立した。
エ．革新主義が基本理念とされた。

問９　下線部⑨に関連して、19 世紀前半のイギリスでは、多くの自由主義的改革が行われた。次の【資料】に関係の深い改革を答えよ。

【資料】　安いパンが豊富に出回ったことを人々が喜んでいる様子

問 10．下線部⑩に関連して、産業革命の波及とその影響に関係の深い次の【資料】について述べた下の【説明文】の［　a　］、［　b　］にあてはまる内容の組み合わせとして正しいものを、下のア～エの中から一つ選び、記号で答えよ。

【資料】

強大な富と力を獲得するために必要な資源を与えられた国民が、進歩の過程において、いかに経済体制を変化させるべきかについては、歴史が教えてくれる。第１段階では、野蛮な状態を脱し、農業を発展させるために、先進国と自由貿易を行う。第２段階では保護貿易により、製造業・漁業・海運業の成長を促進する。第３段階、すなわち富と力が最高水準に達したのちは、自由貿易および市場競争の原則にもとづき、農工商業従事者の勤労意欲と国民の経済的優越を維持する。

【説明文】

【資料】はドイツの歴史学派経済学者の［　a　］が著した『経済学の国民的体系』の一部である。これが発表された 1841 年当時のドイツの経済体制は、資料文中の［　b　］にあったと考えられる。

ア．a － リスト　　b － 第２段階　　イ．a － リスト　　b － 第３段階
ウ．a － アダム＝スミス　　b － 第２段階　　エ．a － アダム＝スミス　　b － 第３段階

問 11　下線部⑪の影響を受けた出来事として最も適当なものを、次のア～エの中から一つ選び、記号で答えよ。
ア．ベルギーがオランダから独立した。
イ．イギリスで初めて産業資本家に選挙権が与えられた。
ウ．フランスでブーランジェ事件が発生した。
エ．イタリアでローマ共和国が建国された。

問 12　下線部⑫に関連して、19 世紀半ばから後半にかけてアイルランド系移民と中国系移民のアメリカ合衆国への流入が急増した理由を、60 字以内で簡潔に説明せよ。その際、次の〈語句〉を必ず使用すること。

〈語句〉　［　ジャガイモ　　1860 年　］

高等学校教諭等　地理歴史
世 界 史

文章Ｃ

オスマン帝国は 19 世紀には諸民族の独立運動とそれに伴う欧州勢力の干渉に苦しめられた。欧州勢力の侵入はオスマン帝国に衝撃を与え、⑬20 世紀初頭までに帝国では様々な改革が実施された。⑭インドは 18 世紀以降イギリスが影響力を強め、19 世紀にはイギリス領となり、東南アジアは、タイを除いたすべての地域が⑮欧米の植民地となった。清朝は⑯19 世紀半ばのアヘン戦争以降、対外戦争と内乱が続き、20 世紀前半に滅亡した。日本は 19 世紀半ば以降、急速に国力を増強し、⑰領土の確定に注力した。

問 13　下線部⑬に関連して、次の【改革】Ａ、Ｂはオスマン帝国内でおこなわれたものであり、下の【統治理念】ａ～ｃはオスマン帝国で実施された統治や改革の理念を定義したものである。【改革】Ａ、Ｂは、【統治理念】ａ～ｃのいずれに依拠したものであると考えられるか。最も適当なものを、次のア～ケの中から一つ選び、記号で答えよ。

【改革】

Ａ	タンジマート（恩恵改革）が実施された。
Ｂ	ミドハト憲法が制定された。

【統治理念】

ａ	トルコ民族主義	：「民族」としてのトルコ人を優先させ、「トルコ国民」の意識形成を重視する。
ｂ	パン＝イスラーム主義	：「宗教」としてのイスラームを優先させ、「ムスリム」の団結を重視する。
ｃ	オスマン主義	：「民族」、「宗教」に関わりなく帝国内の人々は平等であるという考えに基づき、「帝国」の枠組みを重視する。

ア．Ａはａ、Ｂはｂに依拠した。　イ．Ａはａ、Ｂはｃに依拠した。　ウ．Ａはｂ、Ｂはａに依拠した。
エ．Ａはｂ、Ｂはｃに依拠した。　オ．Ａはｃ、Ｂはａに依拠した。　カ．Ａはｃ、Ｂはｂに依拠した。
キ．Ａ、Ｂともにａに依拠した。　ク．Ａ、Ｂともにｂに依拠した。　ケ．Ａ、Ｂともにｃに依拠した。

問 14　下線部⑭に関連して、18 世紀以降のインドについて述べた文として正しいものを、次のア～エの中から一つ選び、記号で答えよ。

ア．18 世紀半ばにイギリス綿製品の市場となった。
イ．インド南部ではライヤットワーリー制が実施された。
ウ．イギリスはシク戦争に勝利し、ベンガル地方の徴税権を獲得した。
エ．プラッシーの戦いの翌年、インド帝国が成立した。

問 15　下線部⑮に関連して、次に挙げる都市と 20 世紀初頭にそこを支配していた国の組み合わせとして正しいものを、次のア～エの中から一つ選び、記号で答えよ。

ア．バダヴィア　－　イギリス　　イ．ハノイ　－　オランダ
ウ．マニラ　－　アメリカ　　エ．マラッカ　－　ポルトガル

問 16　下線部⑯に関連して、アヘン戦争勃発から清の滅亡までにおこった出来事が次の文ア～カの中に３つある。その３つを年代順(古→新)に正しく並べよ。

ア．マカートニーが広州を訪れた。
イ．ベトナムの宗主権を喪失した。
ウ．二十一カ条の要求を受け入れた。
エ．『新青年』が発行された。
オ．総理各国事務衙門が設置された。
カ．戊戌の政変がおこった。

高等学校教諭等　地理歴史
世 界 史

問 17　下線部⑰に関連して、次の【資料】について述べた下の【説明文】の［　　］にあてはまる内容を 40 字以内で簡潔に答えよ。ただし、次の〈語句〉を必ず用いること。

〈語句〉　清

【資料】

注）中央の人物は、中継貿易で繁栄した東シナ海に位置した王国を比喩している。

【説明文】

この【資料】は、1609 年以来［　　］様子を示している。

文章Ｄ

1880 年代以降の欧米先進諸国は、アフリカ・アジア地域への進出を図り、⑱植民地を拡大した。⑲帝国主義時代の到来である。この間、列強諸国では市民文化が成熟に向かい、国民の間には帝国主義を受け入れる傾向も広がり、⑳欧州の社会主義運動も穏健な改革主義へと傾斜していった。一方、㉑「世界政策」と呼ばれる対外膨張政策に転じた国家を前に、既得権益を守ろうとする国々は結束し、列強体制は二極分化した。20 世紀に入ると、多民族国家として国内外の民族運動に直面する２つの帝国はバルカン地域での対立を更に深めていった。この間、欧米の攻勢下におかれたアジアや㉒ラテンアメリカ地域では、多面的な近代化によって外圧への対抗を試み、各地の民族運動の形成を準備した。

問 18　下線部⑱に関連して、イギリスにおける植民地の労働力に関する次の【資料】について述べた下の【説明文】の［　　］にあてはまる内容を簡潔に答えよ。

【資料】印僑の移住先（1856 年～1920 年）
総計 102 万人

地　域	割　合
英領モーリシャス	25.3%
英領西インド諸島	22.7%
英領ギアナ	17.3%
英領ナタールなど	17.0%
その他	17.7%

【説明文】

イギリスでは 1833 年に［　　］、それに代わる労働力として【資料】のように多くのインド系の人々がイギリスの植民地に移住した。

問 19　下線部⑲に関連して述べた次の【説明文】の［　　］に共通してあてはまる人物名を答えよ。
【説明文】

［　　］は、1859 年に発表した著作において、人類を含むすべての生物は「自然選択」によって進化すると説いた。その「自然選択」を「適者適存」と理解することによって生み出された社会［　　］主義は、欧米諸国が各地で植民地化をすすめることを正当化する理論に用いられることもあった。

問 20　下線部⑳のイギリスにおける 1906 年の事例を答えよ。

問 21　下線部㉑の事例として最も適当なものを、次のア～エの中から一つ選び、記号で答えよ。
ア．英露協商を締結した。　イ．三帝同盟を締結した。　ウ．再保障条約を締結した。　エ．神聖同盟を結成した。

問 22　下線部㉒に関連して、このうち 1917 年に土地改革や勤労者の権利、政教分離などを謳った民主的な憲法を制定した国を答えよ。

５　次の文Ａ～Ｃの各文章を読んで、問１～問 24 の各問いに答えなさい。

文章Ａ

①第一次世界大戦は欧州のみならず、イスラーム世界・アジア・アフリカにも戦火を広げた。大戦は、②参戦各国の政治・社会構造を変容させ、さらに③ロシア革命をもたらし、アメリカ合衆国の世界政治への登場を導いた。同時に、大戦が明らかにした欧州近代の破綻は、インド・中国などを先頭に④非ヨーロッパ地域の自立化への歩みを加速させた。また、⑤ヴェルサイユ体制に代表される戦後秩序のもと、国際連盟による平和の実現が期待され、多民族国家であった帝国が解体され、民主主義の実現と経済の回復への多様な取り組みが試みられた。しかし、⑥世界恐慌がおこると、各国は自国の利益のみを優先するようになり、国際協力の機運は急速に衰えた。この状況に乗じて、イタリア・日本・ドイツはファシズム的強権体制のもと、侵略による状況打開をめざし、やがて⑦第二次世界大戦を引き起こした。大戦は、アメリカ合衆国とソ連の主導によって、連合国側の勝利に終わり、新しい国際秩序の模索が始まった。

問１　下線部①に関連して述べた文として正しいものを、次のア～エの中から一つ選び、記号で答えよ。
ア．オーストリアはサライェヴォ事件を契機に、ブルガリアに宣戦した。
イ．日本はドイツの租借地であった広州湾を占領した。
ウ．ロシアはラパロ条約を締結し、ドイツと単独講和を結んだ。
エ．アメリカはドイツの軍事作戦を契機に、連合国側で参戦した。

問２　下線部②について述べた次の【説明文】の［　　］にあてはまる内容を、下の【資料】を踏まえて簡潔に答えよ。
【説明文】

【資料】は大戦中のイギリスの軍需工場の様子である。このような状況が影響し、1918 年にイギリスでは、［　　］。

【資料】

高等学校教諭等　地理歴史
世 界 史

問３　下線部③に関連して、次の【資料】について述べた下の【説明文】の［　　］にあてはまる語句を答えよ。

【資料】

【説明文】

【資料】はロシア革命後に設立されたコミンテルンのポスターである。ポスターは、ロシア語以外の様々な言語を用いて表記されていることから、コミンテルンは［　　］と呼ばれる社会主義に対する考え方が大きく影響していたと考えられる。

問４　下線部④に関連して、第一次世界大戦後のアジアの民族運動について述べた文として正しいものを、次のア～エの中から一つ選び、記号で答えよ。

ア．インドでは、ラホールで国民会議派のネルーらが、プールナ＝スワラージを決議した。
イ．中国では、五・四運動の影響で憲法大綱が発表され、国会の開設が約束された。
ウ．アラビア半島では、サウジアラビア王国が建設され、徹底した西欧近代化がすすめられた。
エ．ベトナムでは、日本に留学生を送り近代化を図る、ドンズー（東遊）運動が盛んとなった。

問５　下線部⑤に関連して述べた文として正しいものを、次のア～エの中から一つ選び、記号で答えよ。

ア．ドイツはトリエステと南チロルをイタリアに返還した。
イ．ハンガリーは連合国とトリアノン条約を締結した。
ウ．シリアはイギリスの委任統治のもとにおかれた。
エ．国際連盟が結成され、アメリカや日本は常任理事国となった。

問６　下線部⑥に関連して、次の【資料】は 1912 年と 1935 年の日本の輸出総額に占める各地域への輸出額の割合を示したものである。【資料】について述べた下の【説明文】の［　　］にあてはまる内容として最も適当なものを、下のア～エの中から一つ選び、記号で答えよ。

【資料】

	アジア	欧州	アメリカ	その他
1912 年	49.0%	19.3%	28.8%	3.0%
1935 年	62.8%	8.8%	19.9%	8.5%

【説明文】

1912 年と比較して 1935 年は、［　　］と考えられる。

ア. アジアの割合が増加していることから、日本は日中戦争によって獲得した上海や広州を拠点に、世界恐慌対策として中国南部の市場を開拓した。
イ. アジアの割合が増加していることから、日本は 1930 年代に入って台湾や朝鮮半島を自国の領域として初めて組み込み、世界恐慌対策として自国の市場とした。
ウ. 欧州やアメリカの割合が減少していることから、欧州やアメリカは世界恐慌対策として自国の経済圏以外の地域との貿易における関税を引き上げた。
エ. 欧州やアメリカの割合が減少していることから、欧州やアメリカは世界恐慌対策として自国の経済圏以外の地域との貿易における関税を引き下げた。

問７　下線部⑦に関連して、次の【地図】に関係の深い第二次世界大戦中の出来事について述べた文として正しいものを、下のア～エの中から一つ選び、記号で答えよ。

【地図】

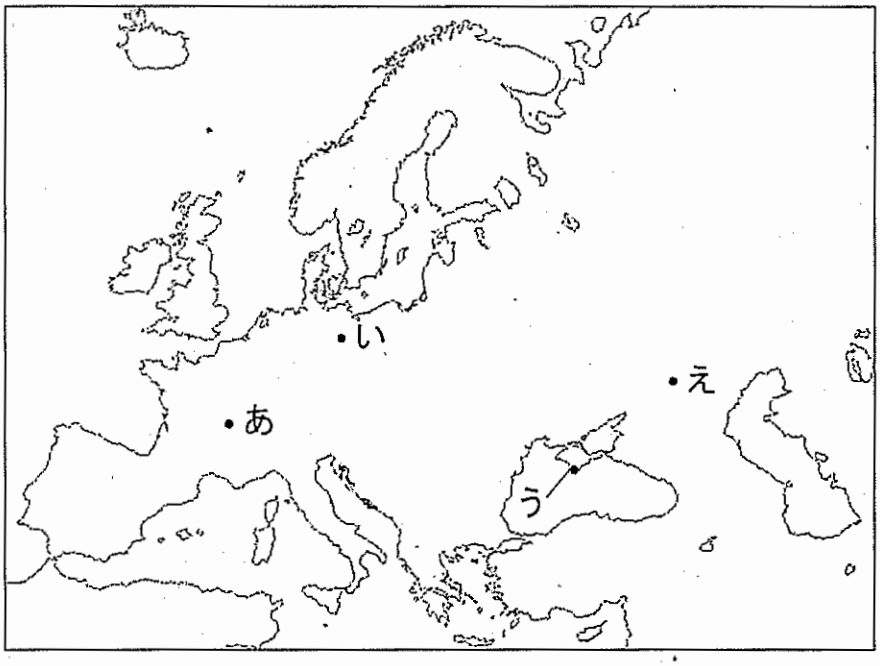

ア. 地図中のあにブルムを首班とする親独政権が樹立された。
イ. 地図中のいがアメリカ軍によって制圧され、ドイツは無条件降伏した。
ウ. 地図中のうで開催された連合国の会議では、ソ連の対日参戦が決定された。
エ. 地図中のえでドイツがソ連に勝利し、独ソ戦におけるドイツの反攻が始まった。

高等学校教諭等　地理歴史
世 界 史

文章Ｂ

第二次世界大戦の反省から、戦後世界の平和や繁栄を実現するために、国際連合など様々な国際機関が樹立された。しかし、米ソ両国間には、戦後ほどなく⑧冷戦と呼ばれる緊張状態が発生し、世界は東西両陣営に分裂した。⑨ソ連を中心とする東側の社会主義陣営は、東欧や⑩中国・⑪キューバ・⑫ベトナムなどにも拡大したが、中ソ対立など陣営内部の対立や共産党一党体制の問題点なども表面化していった。また、西側陣営においても、⑬第五共和政下のフランスが独自の動きを見せるなど多極化の様相も見られた。他方、植民地状態におかれてきた⑭アジアやアフリカの諸民族は独立を達成したものの、その後も⑮部族対立が激化する地域もあった。また、アジアやアフリカ地域では⑯局地的な戦争も勃発し、政情は不安定であった。戦後世界ではアメリカを中心とした自由貿易体制が樹立され、先進国では急速な経済成長がすすみ、「豊かな社会」が実現したが、⑰環境破壊や⑱資源の枯渇などの危機が生じた。一方、独立後も深刻な貧困問題を抱えた国の多かったアジア・アフリカの諸国と、急速な経済成長を実現した先進国の間に「南北問題」がおこったが、さらに1970年代以降には、⑲アジア・アフリカ諸国のなかでも工業化に成功する国々が登場し、「南南格差」が発生していった。

問８　下線部⑧に関連して、冷戦に関する次の文ア～エを時代順（古→新）に正しく並べたときに、３番目にあたるものを一つ選び、記号で答えよ。
ア．ベルリンの壁が構築された。
イ．ソ連がアフガニスタンに侵攻した。
ウ．トルーマン＝ドクトリンが発表された。
エ．スターリン批判が行われた。

問９　下線部⑨に関連して、東側陣営の中には1960年代に入ってソ連型の社会主義とは距離を置く国家も現れた。次の【資料】は、1968年に発表されたある社会主義国の共産党行動綱領である。【資料】の［　　］にあてはまるその国を答えよ。

【資料】

> 社会主義に対する不安や、社会主義の人道的使命、その人間的な顔が失われているのではないか、という恐れが生まれてきた。･･･私たちは、新しい、深く民主的で、［　　］の条件にあった社会主義社会のモデルの建設に進みたいと考えるのである。　（出典　『世界史史料11』より一部抜粋）

問10　下線部⑩に関連して、第二次世界大戦後の中国について誤りを含むものを、次のア～エの中から一つ選び、記号で答えよ。
ア．毛沢東は「大躍進」運動を始め、人民公社を組織した。
イ．劉少奇はプロレタリア文化大革命で林彪ら走資派を非難した。
ウ．鄧小平らを中心とした指導部は、「四つの現代化」を推進した。
エ．江沢民が指導する時代に、ＷＴＯ（世界貿易機関）に加盟した。

問11　下線部⑪に関連して、キューバは米ソの両大国に翻弄された歴史を持つ。キューバ危機はその一例である。1950年代末から1963年までを対象に、キューバ危機の経緯、結果、影響を160字以内で説明せよ。その際、人物は記さないこと。また、下の〈語句〉を必ず用いること。

〈語句〉　社会主義宣言　　海上封鎖

問12　下線部⑫に関連して、ベトナムが東側陣営と関係を深めたことは、のちにベトナム戦争を引き起こした。ベトナム戦争中におこった出来事を、次のア～エの中から一つ選び、記号で答えよ。
ア．エジプト革命が起こった。　　イ．第２次石油危機が発生した。
ウ．ニクソンが中華人民共和国を訪問した。　　エ．第２次天安門事件が発生した。

問13　下線部⑬に関連して、第二次世界大戦中にロンドンに亡命し、自由フランス政府を樹立して対独レジスタンス運動を展開した経歴を持つ大統領について述べた文として正しいものを、次のア～エの中から一つ選び、記号で答えよ。
ア．西ヨーロッパ連合条約（ブリュッセル条約）を締結した。
イ．ＮＡＴＯの軍事機構から脱退した。
ウ．第２次中東（スエズ）戦争に介入した。
エ．フォークランド戦争に勝利した。

問 14　下線部⑭に関連して、述べた文として正しいものを、次のア～エの中から一つ選び、記号で答えよ。
ア．朝鮮半島では、朝鮮戦争の休戦協定成立後、韓国と北朝鮮が独立した。
イ．ガンディーを首相としてイギリスからインド連邦が独立した。
ウ．ガーナはエンクルマ（ンクルマ）の指導の下、アフリカ最初の自力独立の黒人共和国となった。
エ．モザンビークでは民族解放戦線（ＦＬＮ）がポルトガルと戦い、独立した。

問 15　下線部⑮に関連して、フツ人とツチ人の長期にわたる部族対立が 1994 年の無差別虐殺に発展した国を答えよ。

問 16　下線部⑯に関連して述べた次のａ・ｂの正誤の組み合わせとして正しいものを、下のア～エの中から一つ選び、記号で答えよ。

ａ．インド＝パキスタン戦争ののち、アフガニスタンが独立した。
ｂ．第３次中東戦争に勝利したイスラエルは、シナイ半島に領土を広げた。

ア．ａ－正　ｂ－正　　イ．ａ－正　ｂ－誤　　ウ．ａ－誤　ｂ－正　　エ．ａ－誤　ｂ－誤

問 17　下線部⑰に関連して、1962 年に『沈黙の春』を出版し、農薬が生物に与える否定的影響について警鐘を鳴らした人物を答えよ。

問 18　下線部⑱に関連して、20 世紀に入ると先進国は石油利権を確保するために西アジアに影響力を及ぼした。このような状況に直面した西アジアの国々では様々な反応が見られた。このうち、パフレヴィー朝における 1951 年の事例を、人物を明らかにして 20 字以内で簡潔に答えよ。

問 19　下線部⑲に関連して、これに該当する国について述べた次の【説明文】の下線部に該当する人物を答えよ。
【説明文】

この国はかつて、イギリス海峡植民地を構成する一地域であった。1963 年のマレーシアの成立時にもその一部となったが、中国系住民を中心に 1965 年に分離独立し、初代の首相のもとで急速な経済発展を遂げた。

文章Ｃ

1980 年代以降、冷戦の終結や⑳東欧社会主義圏の消滅とソ連の解体などの結果、資本主義の優位が強調され、アメリカの軍事的覇権が維持されたまま、貿易や金融、情報の自由化をめざすグローバリゼーションの動きが強まった。グローバリゼーションのもとでは、㉑一国の危機が直ちに地球規模の危機に波及する脅威も増大した。工業化の波は多くの国に拡大し、㉒韓国など急速に経済を発展させる国が出現し、他方では㉓経済協力を柱とした地域統合も進んだ。一方、国家間紛争の減少と反比例するかのように、中東やアフリカでの地域内紛争や㉔国際的テロ活動は増加の傾向を示している。現代世界の抱える様々な問題は地球規模の国際協力による解決が求められており、各国政府・国際機関・ＮＧＯなど様々な主体による多角的な協力関係の構築が求められている。

問 20　下線部⑳に関連して述べた次の【説明文】の［ a ］、［ b ］にあてはまる国をそれぞれ答えよ。
【説明文】

1989 年５月、［ a ］が［ b ］との国境フェンスを取り除き、両国の往来を自由にしたところ、東ドイツ市民は隣接する国家を経由して、［ a ］国境から西側の［ b ］への脱出を開始した。このような東側諸国から西側諸国への人の移動が、東欧社会主義圏消滅の一契機となった。

問 21　下線部㉑に関連して、この事例の一つに挙げられる、2008 年のアメリカの投資銀行の破綻を端緒とした出来事の名称を答えよ。

高等学校教諭等　地理歴史
世 界 史

問 22　下線部㉒に関連して、韓国に関する次の文ア～エを時代順（古→新）に正しく並べたときに、３番目にあたるものを一つ選び、記号で答えよ。
ア．ソウルオリンピックが開催された。
イ．光州事件がおこった。
ウ．日韓基本条約が結ばれた。
エ．国際連合に加盟した。

問 23　下線部㉓に関連して、ヨーロッパ連合（ＥＵ）の源流はヨーロッパ石炭鉄鋼共同体（ＥＣＳＣ）に求めることができる。次の【資料】はこの成立に影響を与えたヨーロッパの政治家が 1950 年に発表したものである。［　　］にあてはまる国の組み合わせとして正しいものを、次のア～カの中から一つ選び、記号で答えよ。
【資料】

> ヨーロッパは一挙に、また単一の構造体としてつくられるわけではありません。ヨーロッパは、まず実態ある連帯を生み出す具体的な成果を積み重ねることにより形成されるのです。ヨーロッパ諸国が１つとなるためには、［　　］の積年の敵対関係が一掃されることが必要です。両国こそが率先して行動を起こすべきなのです。ここに、この両国の石炭及び鉄鋼の全生産物を共通の高等機関のもとで、ヨーロッパのその他の国々が参加する開放的組織に配することを提案いたします。
>
> （出典　『世界史史料 11』より一部抜粋）

ア．イギリスとフランス　　イ．イギリスとドイツ　　ウ．イギリスとイタリア
エ．ドイツとフランス　　オ．フランスとイタリア　　カ．ドイツとイタリア

問 24　下線部㉔に関連して、2001 年９月の同時多発テロ事件が発生した当時のアメリカ大統領の在任時の出来事について述べた文として正しいものを、次のア～エの中から一つ選び、記号で答えよ。
ア．イラク戦争を開始し、フセイン政権を打倒した。
イ．湾岸戦争で多国籍軍を中心となって組織し、クウェートを支援した。
ウ．第１次戦略兵器制限交渉（第１次ＳＡＬＴ）を開始した。
エ．パレスチナ暫定自治協定の仲介をおこなった。

令和6年度佐賀県公立学校教員採用選考試験

専門試験Ⅰ　解答用紙

高等学校教諭等

地理歴史

世 界 史

令和６年度佐賀県公立学校教員採用選考試験
専門試験Ⅰ　解答用紙及び解答例

高等学校教諭等　地理歴史　共　通

受験番号

1

(1)	(2)	(3)	(4)	(5)
ウ	イ	エ	ア	ウ
(6)	(7)	(8)	(9)	(10)
ウ	イ	ウ	ウ	イ
(11)	(12)	(13)	(14)	(15)
ア	エ	ア	ウ	ウ
(16)	(17)	(18)	(19)	(20)
エ	ア	ウ	エ	ア

各2点（20問40点）

令和６年度佐賀県公立学校教員採用選考試験
専門試験Ⅰ　解答用紙及び解答例

高等学校教諭等　地理歴史　世界史

受験番号

2

1	2	3	問1	問2	問3	問4
ポエニ	マリ	リューベック	ウ	ウ	イ	イ

問5	問6	問7
カ	ア	イ

問8

ア	ウ	ラ	ン	グ	ゼ	ー	ブ	は	ジ	ズ	ヤ	を	復	活	さ	せ	た	こ	と	20
で	、	非	ム	ス	リ	ム	の	反	発	を	招	い	た	。						40字

問9

前	5	世	紀	半	ば	に	慣	習	法	を	は	じ	め	て	成	文	化	し	た	20
十	二	表	法	が	制	定	さ	れ	、	前	36	7	年	に	は	リ	キ	ニ	ウ	40
ス	・	セ	ク	ス	デ	ィ	ウ	ス	法	に	よ	り	コ	ン	ス	ル	の	う	ち	60
一	人	は	平	民	か	ら	選	ば	れ	る	よ	う	に	な	っ	た	。	そ	し	80
て	前	28	7	年	に	は	ホ	ル	テ	ン	シ	ウ	ス	法	に	よ	り	平	民	100
会	の	決	議	が	元	老	院	の	認	可	な	し	に	全	ロ	ー	マ	人	の	120
国	法	と	な	る	こ	と	が	定	め	ら	れ	、	平	民	と	貴	族	の	政	140
治	上	の	権	利	は	同	等	と	な	っ	た	。								160字

問10(1)	問10(2)	問11	問12	問13(1)	問13(2)
ク	ウェルギリウス	カーリミー商人	イブン＝ルシュド（アヴェロエス）	スワヒリ語	エ

問14	問15	問16(1)	問16(2)	問17	問18
イ	エ	金印勅書	イ	マルグレーテ	イ

問19

教	皇	権	の	絶	対	性	を	主	張	し	た	教	皇	ボ	ニ	フ	ァ	テ	ィ	20
ウ	ス	8	世	と	フ	ラ	ン	ス	王	フ	ィ	リ	ッ	プ	4	世	は	、	聖	40
職	者	へ	の	課	税	権	を	め	ぐ	り	対	立	し	て	い	た	。	13	03	60
年	に	は	、	教	皇	が	フ	ラ	ン	ス	王	に	と	ら	え	ら	れ	る	ア	80
ナ	ー	ニ	事	件	が	お	き	た	。	そ	の	後	、	教	皇	庁	は	南	フ	100
ラ	ン	ス	の	ア	ヴ	ィ	ニ	ョ	ン	に	移	さ	れ	た	。	こ	の	こ	と	120
は	、	教	皇	権	の	衰	退	を	象	徴	す	る	出	来	事	と	し	て	「	140
教	皇	の	バ	ビ	ロ	ン	捕	囚	」	と	よ	ば	れ	た	。					160字

空欄補充1～3/問10(2)、問11、問12、問13(1)、問16(1)、問17は各1点

問1～7、問10(1)、問13(2)～問15、問16(2)、問18は各2点/問8は3点/問9、問19は各5点

令和６年度佐賀県公立学校教員採用選考試験
専門試験Ⅰ　解答用紙及び解答例

高等学校教諭等　地理歴史　世界史

受験番号

3

問1	問2	問3(1)	問3(2)	問4	問5
キ	ウ	ウ	イ	ウ	党錮の禁

問6

地	方	に	お	か	れ	た	中	正	官	が	人	材	を	9	等	に	わ	け	て	20
推	薦	す	る	九	品	中	正	が	実	施	さ	れ	た	。	そ	の	結	果	、	40
有	力	な	豪	族	が	高	級	官	職	を	独	占	し	、	門	閥	貴	族	が	60
形	成	さ	れ	た	。					70字										

問7

8	世	紀	半	ば	に	お	き	た	安	史	の	乱	後	に	、	有	力	な	節	20
度	使	は	軍	事	だ	け	で	は	な	く	、	民	政	・	財	政	を	掌	握	40
し	藩	鎮	と	よ	ば	れ	、	自	立	の	勢	い	を	示	し	た	。			60字

問8	問9	問10	問11	問12	問13	問14(1)
市舶司	イ	エ	イ	オ	坤輿万国全図	理藩院

問14(2)	問15
エ	カ

問5、問8、問13、問14(1)は各1点/問1～問4、問9～問12、問14(2)、問15は各2点/問6、問7は各3点

高等学校教諭等　地理歴史　世界史

受験番号

4

問１
豊臣秀吉が朝鮮出兵をおこなった。

問２
聖書のチェコ語訳をおこなった。

問３																				
三	十	年	戦	争	は	、	ブ	ル	ボ	ン	家	が	ハ	プ	ス	ブ	ル	ク	家	20
と	の	対	立	を	優	先	さ	せ	た	よ	う	に	、	宗	教	的	対	立	を	40
超	え	た	政	治	的	対	立	の	性	格	を	持	っ	た	。					60字

問４	問５	問６	問７	問８
ア	ウ	ケベック	イ	イ

問９
穀物法が廃止された。

問10	問11
ア	エ

問12																				
ア	イ	ル	ラ	ン	ド	で	ジ	ャ	ガ	イ	モ	飢	饉	が	、	ま	た	中	国	20
で	は	18	60	年	の	北	京	条	約	で	中	国	人	の	海	外	渡	航	が	40
公	認	さ	れ	た	こ	と	が	影	響	し	た	た	め	。						60字

問13	問14	問15	問16
ケ	イ	ウ	オ → イ → カ

問17																				
日	本	と	清	に	両	属	状	態	で	あ	っ	た	琉	球	を	清	か	ら	離	20
し	、	日	本	の	領	域	に	組	み	込	も	う	と	し	て	い	る			40字

問18
奴隷制が廃止され

問19	問20
ダーウィン	労働党が結成された。

問21	問22
ア	メキシコ

問４、問６、問７、問８、問11、問14、問15、問19、問22は各1点
問２、問５、問９、問10、問13、問16、問18、問20、問21は各2点（全て部分点なし）
問１は２点。問３、問12、問17は３点。

令和６年度佐賀県公立学校教員採用選考試験
専門試験Ⅰ　解答用紙及び解答例

高等学校教諭等　地理歴史　世界史

受験番号

5

問１	問２
エ	（30歳以上の）女性に参政権が付与された。

問３	問４	問５	問６	問７	問８	問９	問10
世界革命論	ア	イ	ウ	ウ	ア	チェコスロヴァキア	イ

問11

革	命	に	よ	っ	て	親	米	独	裁	政	権	が	倒	さ	れ	、	米	国	と	20
の	対	立	が	深	ま	っ	た	。	そ	の	後	米	国	と	断	交	し	て	社	40
会	主	義	宣	言	を	発	表	し	、	ソ	連	に	接	近	し	た	。	ソ	連	60
が	ミ	サ	イ	ル	基	地	を	建	設	す	る	と	、	米	国	は	海	上	封	80
鎖	で	対	抗	し	両	国	の	緊	張	が	高	ま	っ	た	が	、	ソ	連	の	100
譲	歩	で	核	戦	争	の	危	機	は	回	避	さ	れ	た	。	翌	年	ホ	ッ	120
ト	ラ	イ	ン	が	設	置	さ	れ	、	部	分	的	核	実	験	禁	止	条	約	140
が	締	結	さ	れ	る	な	ど	緊	張	緩	和	に	向	か	っ	た	。			160字

問12	問13	問14	問15	問16	問17
ウ	イ	ウ	ルワンダ	ウ	レイチェル＝カーソン

問18

モ	サ	デ	グ	が	、	石	油	の	国	有	化	を	宣	言	し	た	。			20字

問19	問20　a	問20　b	問21	問22	問23
リー＝クアンユー	ハンガリー	オーストリア	世界（国際）金融危機（リーマン＝ショック）	ア	エ

問24
ア

問１、問２、問３、問９、問15、問17、問19、問20ａ、ｂ、問21、問23は各1点
問４、問５、問６、問７、問８、問10、問12、問13、問14、問16、問22、問24は各2点
問18は２点。問11は５点。

令和6年度佐賀県公立学校教員採用選考試験

専門試験Ⅰ　問題

高等学校教諭等

地理歴史

日　本　史

令和６年度佐賀県公立学校教員採用選考試験
専門試験Ⅰ　問題

高等学校教諭等　地理歴史　共　通

１　次の（１）～（20）の各問いに答えなさい。

（１）法学研究で有名な、北イタリアに現存する最古の大学を、次のア～エの中から一つ選び、記号で答えよ。
ア．サレルノ大学　イ．オクスフォード大学　ウ．ボローニャ大学　エ．ケンブリッジ大学

（２）明の時代に中書省の廃止などによって皇帝独裁体制を強化した人物を、次のア～エの中から一つ選び、記号で答えよ。
ア．光武帝　イ．洪武帝　ウ．光緒帝　エ．宣統帝

（３）東西貿易で繁栄し、東南アジアのイスラーム化の拠点となった港市国家を、次のア～エの中から一つ選び、記号で答えよ。
ア．パガン朝　イ．マジャパヒト王国　ウ．スコータイ朝　エ．マラッカ王国

（４）1534 年、イギリスのヘンリ８世の時代に成立しイギリス国教会の成立に大きな影響を与えた法律を、次のア～エの中から一つ選び記号で答えよ。
ア．首長法　イ．統一法　ウ．航海法　エ．審査法

（５）産業革命期のイギリスにおいて、多軸紡績機と水力紡績機のそれぞれの長所を取り入れたミュール紡績機を発明した人物を、次のア～エの中から一つ選び記号で答えよ。
ア．ジョン＝ケイ　イ．アークライト　ウ．クロンプトン　エ．カートライト

（６）第一次世界大戦後の国際協調の機運が高まる中で 1925 年に締結された、ドイツと西欧諸国との国境の現状維持と相互保障が決められた条約を、次のア～エの中から一つ選び記号で答えよ。
ア．サン＝ステファノ条約　イ．九カ国条約　ウ．ロカルノ条約　エ．不戦条約

（７）1949 年、相沢忠洋によって群馬県で発見され、日本の旧石器時代解明の端緒となった遺跡を、次のア～エの中から一つ選び、記号で答えよ。
ア．三内丸山遺跡　イ．岩宿遺跡　ウ．纒向遺跡　エ．池上曽根遺跡

（８）大宝律令の編纂に深く関わった人物を、次のア～エの中から一つ選び、記号で答えよ。
ア．厩戸王　イ．舎人親王　ウ．刑部親王　エ．草壁皇子

（９）応仁の乱は、守護の勢力争いに将軍継嗣問題が絡んで始まったが、その将軍として正しいものを、次のア～エの中から一つ選び、記号で答えよ。
ア．足利尊氏　イ．足利義満　ウ．足利義政　エ．足利義昭

（10）もとは安芸の国人で、中国地方のほぼ全域を一代で制覇し、大国を築き上げた戦国大名を、次のア～エの中から一つ選び、記号で答えよ。
ア．大内義隆　イ．毛利元就　ウ．大友義鎮　エ．北条早雲

（11）江戸時代中期に設立された佐賀藩の藩校を、次のア～エの中から一つ選び、記号で答えよ。
ア．弘道館　イ．興譲館　ウ．造士館　エ．明倫館

（12）岩倉使節団に随行し、『特命全権大使米欧回覧実記』を著した人物を、次のア～エの中から一つ選び、記号で答えよ。
ア．大隈重信　イ．佐野常民　ウ．山口尚芳　エ．久米邦武

（13）1951 年、サンフランシスコ講和会議に招待されなかった国を、次のア～エの中から一つ選び、記号で答えよ。
ア．中華人民共和国　イ．ソ連　ウ．イギリス　エ．インド

（14）位置情報を持ったデータを総合的に管理・加工し、電子地図上に地図や図形など視覚的に表示する位置情報システムを何というか、次のア～エの中から一つ選び、記号で答えよ。
ア．GNSS　イ．GPS　ウ．GIS　エ．VICS

（15）学校に通う子どもが学校を休み、保護者とともに家庭や地域で体験、探究の学び・活動を自ら考え、企画・実行する制度を何というか、次のア～エの中から一つ選び、記号で答えよ。
ア．ワーケーション　イ．アクティブバケーション　ウ．ラーケーション　エ．バーチャルツアー

（16）観光客の著しい増加等が、地域住民の生活や自然環境、景観等に対して受忍限度を超える負の影響をもたらしたり、観光客の満足度を著しく低下させるような状況を何というか、次のア～エの中から一つ選び、記号で答えよ。
ア．サスティナブルツーリズム　イ．エシカルツーリズム　ウ．ネイチャーツーリズム　エ．オーバーツーリズム

(17) 2022年の日本における新生児の出生数は、統計を取り始めた１８９９年以降最低となったが、その数字に一番近いものを次のア～エの中から一つ選び、記号で答えよ。

ア．８０万人　イ．１２０万人　ウ．１６０万人　エ．２００万人

(18) 近年、コンビニエンスストアでは、配送の効率化や知名度を上げる方法として、一つの地域に集中させる出店方式がみられる。このような出店方式は何とよばれるか。次のア～エの中から一つ選び、記号で答えよ。

ア．拠点開発方式　イ．センターピボット方式　ウ．ドミナント方式　エ．フランチャイズ方式

(19) 青少年の相互交流を目的に、滞在期間中の旅行費用を補うため、一定の範囲内で働くことを互いに認め合う二国間の取り決めを何というか。次のア～エの中から一つ選び、記号で答えよ。

ア．シェンゲン協定　イ．Trips協定　ウ．ハーグ条約　エ．ワーキングホリデー制度

(20) 次の表１は日本の海面・内水面養殖における収穫量の多い上位都道府県を示している。何の養殖か、下のア～エの中から一つ選び、記号で答えよ。

表１

養殖収穫量（2020年，ｔ） 全国（16806）	鹿児島（7057），愛知（4315），宮崎（2856），静岡（1536），徳島（243）

『データブックオブ・ザ・ワールド2023年版』　二宮書店

ア．うなぎ　イ．かき　ウ．ぶり　エ．ます

２　次のＡ～Ｅの文章を読み、文中の空欄（　１　）～（　６　）に適語を記入し、下の問１～問14の各問いに答えなさい。

Ａ　今から約２万年前、（　１　）は人の①狩りを手伝い、食べ残しをもらって人とともに暮らすようになった。縄文時代の（１）は、歯が抜けたり、骨折していることが多い。それは狩猟の際に怪我を負ったためと考えられている。死ぬと丁寧に埋葬された。折れた骨が治るまで生きていた（１）もいたようで、大切に飼われていたことがうかがえる。
②弥生時代、農耕が始まると、日本人はネコを飼うようになった。貯蔵してある穀物を食べるネズミをネコが食べるからである。ネコは肉食で、ネズミを食べても穀物は食べないため、人と共生関係を築いたのである。

問１　下線部①に関して述べた文として正しいものを、次のア～エの中から一つ選び、記号で答えよ。
ア　大陸と日本列島が陸続きだったころ、旧石器時代の人々は南からやってきたマンモスを石槍を用いて捕らえた。
イ　縄文時代は動きの素早いヘラジカやオオツノジカを捕らえるために、弓矢を用いたと考えられている。
ウ　弥生時代の銅鐸の表面に描かれている絵によると、狩猟は男性が行う仕事であったと考えられている。
エ　弥生文化は北海道には及ばず、北海道では貝塚文化（貝塚後期文化）が続き、狩猟を中心とする生活が行われた。

問２　下線部②に関して、弥生土器に付着した炭化物の調査から、弥生時代の始まりは従来考えられていたよりも数百年さかのぼるとされ、紀元前８世紀頃から始まると最近の研究で実証された。この根拠となった年代の特定は「炭素14年代測定法」という方法を用いた研究によって解明された。「炭素14年代測定法」を簡潔に説明せよ。

Ｂ　日本最古の文字資料は、志賀島出土の「漢委奴国王」の金印である。その後③中国の歴史書の記述や、百済の王が倭の王に送ったとされる刀で石上神宮に伝わる（　２　）、④稲荷山古墳の鉄剣などの金石文があり、まとまったものとしては７世紀後半に事例が増加する⑤木簡、そして８世紀前半の⑥記紀があげられる。

問３　下線部③に関して、次のⅠ～Ⅲは中国の歴史書の記述の一部である。年代の古い順に正しく配列したものを、下のア～カの中から一つ選び、記号で答えよ。
Ⅰ　明年、上、文林郎裴清を遣はして倭国に使せしむ。
Ⅱ　詔して武を使持節都督倭・新羅・任那・加羅・秦韓・慕韓六国諸軍事、安東大将軍、倭王に除す。
Ⅲ　桓・霊の間、倭国大いに乱れ、更々相攻伐し、歴年主無し。
ア　Ⅰ－Ⅱ－Ⅲ　　イ　Ⅰ－Ⅲ－Ⅱ　　ウ　Ⅱ－Ⅰ－Ⅲ
エ　Ⅱ－Ⅲ－Ⅰ　　オ　Ⅲ－Ⅰ－Ⅱ　　カ　Ⅲ－Ⅱ－Ⅰ

問４　下線部④について、次の【史料１】は稲荷山古墳出土鉄剣銘である。この史料に関して述べた文Ｘ・Ｙについて、その正誤の組み合わせとして正しいものを、下のア～エの中から一つ選び、記号で答えよ。

【史料１】
〔表〕辛亥年七月中記す。乎獲居臣。上祖、名は意富比垝。其の児、多加利足尼。其の児、名は弖已加利獲居。其の児、名は多加披次獲居。其の児、名は多沙鬼獲居。其の児、名は半弖比。
〔裏〕其の児、名は加差披余。其の児、名は乎獲居臣。世々、杖刀人の首と為り、奉事し来り今に至る。獲加多支鹵大王の寺、斯鬼宮に在る時、吾、天下を左治し、此の百練の利刀を作らしめ、吾が奉事の根原を記す也。

Ｘ　この鉄剣銘は、乎獲居臣の一族が代々大王家に仕えていたことを記すために刻まれた。
Ｙ　ワカタケル大王が、斯鬼宮で大王家の由来を記録するように命じたことが鉄剣から読み取れる。
ア　Ｘ－正　Ｙ－正　　イ　Ｘ－正　Ｙ－誤　　ウ　Ｘ－誤　Ｙ－正　　エ　Ｘ－誤　Ｙ－誤

問５　下線部⑤・⑥に関して、【史料２】は編者によって潤色された箇所があるといわれている。次の２つの木簡と【史料２】を比較して、どのような潤色が加えられているかを 100 字以内で説明せよ。その際、【史料２】は何年に出された何という詔かを明らかにすること。

【史料２】
其の二に曰く、初めて京師を修め、畿内国の司・郡司・関塞・斥候・防人・駅馬・伝馬を置き、及び鈴契を造り、山河を定めよ。
『日本書紀』

隠伎国海部郡佐吉郷日下マ止々利
調鰒六斤　養老七年

平城京出土

庚子年四月　若佐国小丹生評
木ツ里秦人申二斗

※庚子年は西暦７００年

藤原京出土

問６　下線部⑥について、『日本書紀』はその記述の信憑性についての議論があるが、次の【史料３】の記載内容は発掘調査によって正しいことが証明された。次の史料の空欄 a に当てはまる寺を答えよ。

【史料３】
（天智天皇九年）夏四月癸卯の朔壬申、夜半之後に a に災けり。一屋も余ること無し。大雨ふり雷震る。
※天智天皇九年は西暦６７０年　『日本書紀』

C　舒明天皇の時代に遣唐使が派遣され、先進的な政治制度や文化の吸収がはかられた。⑦東北などの地方支配も進めて⑧律令国家の建設を推し進めていった。奈良時代は、藤原氏や皇族勢力が中心となって政権を担当し、仏教の（　３　）思想をもとに政治運営を行い、また口分田不足の解消のために開墾政策を実施した結果、貴族・寺院による私有地拡大が進み、⑨初期荘園が形成されていった。

問７　下線部⑦に関して、古代の東北経営について述べた文として誤っているものを、次のア～エの中から一つ選び、記号で答えよ。

ア　東北地方に住む人々を蝦夷と呼び、彼らを服従させるために斉明天皇は阿倍比羅夫を派遣した。
イ　奈良時代になると日本海側に出羽国、そして秋田城が築かれ、太平洋側にも多賀城を築き、蝦夷対策の拠点とした。
ウ　征夷大将軍となった坂上田村麻呂は、胆沢城を築いて伊治呰麻呂を服従させ、東北経営の拠点とした。
エ　俘囚の首長であった安倍氏は国司と争っていたが、源頼義・義家親子により滅ぼされた。この戦いを前九年合戦という。

問８　下線部⑧に関して、律令は中国の影響を受けてつくられたが、初唐文化の影響を強く受けている文化財はどれか。最も適当なものを、次のア～エの中から一つ選び、記号で答えよ。

ア

イ

ウ

エ

問９　下線部⑨に関連して、初期荘園の成立に最も関係の深い史料を次のア～エの中から一つ選び、記号で答えよ。

ア　今自り以後、任に私財とし、三世一身を論ずること無く、咸悉く永年に取ること莫れ

イ　応に勅旨開田幷に諸院諸宮及び五位以上の、百姓の田地舎宅を買ひ取り閑地荒田を占請するを停止すべき事

ウ　其れ新たに溝池を造り、開墾を営む者有らば、多少を限らず、給ひて、三世に伝へしめむ

エ　寛徳二年以後の新立庄園を停止すべし。縦ひ彼の年以往と雖も、立券分明ならず、国務に妨げ有らば、同じく停止の由宣下す

D　粟子の変の後、藤原四子の家柄の中で⑩北家が勢力を伸ばし、（　4　）は人臣として初めて摂政の座につき、他氏排斥によりその地位を高めた。その後、醍醐・村上天皇による親政が行われたが、安和の変後には摂関常置が確立され、藤原道長・頼通父子の時に摂関政治は最盛期を迎えた。外交では、唐滅亡後に建国した⑪宋の商人を通じてさかんに交易をおこなった。

問 10　下線部⑩に関して、藤原北家の一族について述べた文として正しいものを、次のア～エの中から一つ選び、記号で答えよ。

ア　藤原宇合は、光明子立后問題で対立した長屋王の邸を取り囲み、長屋王を自殺に追い込んだ。

イ　藤原仲麻呂は、孝謙上皇と対立し恵美押勝の乱を起こしたが、上皇に先制され滅ぼされた。

ウ　藤原冬嗣は、一族の子弟のために大学別曹として弘文院を設立し、教育を施した。

エ　藤原隆家は、大宰権帥として九州に赴任している際、刀伊の入寇に遭遇し、その鎮圧に成功した。

問 11　下線部⑪に関して、日本と宋との関係について述べた文として正しいものを、次のア～エの中から一つ選び、記号で答えよ。

ア　日本は中国中心の外交関係（朝貢関係）を受け入れ、宋との正式な国交を樹立した。

イ　10 世紀末に、奝然が宋から持ち帰った釈迦如来像は京都の清涼寺に安置され、厚い信仰を獲得した。

ウ　平忠盛・清盛は日宋貿易に力を入れ、和泉の大輪田泊を修築し、貿易を推進した。

エ　『信貴山縁起絵巻』の福岡市の場面には、ひもで通した銭を持つ男性が描かれ、宋銭が流通していたことがわかる。

E　⑫後白河上皇自らが、民間の流行歌である今様を学んで『（　5　）』を編んだことは、⑬院政期の貴族と庶民の文化の深い関わりをよく示している。歌謡では、催馬楽や朗詠が流行し、芸能では田植えの際に行った（　6　）などが貴族や庶民の間に流行した。文学ではインド・中国・日本の 1000 話余りを集成した説話集⑭『今昔物語集』が作られた。

問 12　下線部⑫に関する文として誤っているものを、次のア～エの中から一つ選び、記号で答えよ。

ア　鳥羽法皇が死去すると兄の崇徳上皇と対立し保元の乱がおきたが、後白河天皇側が勝利した。

イ　『年中行事絵巻』を作らせ、宮中の主要な儀式を絵画化して後世に伝えようとした。

ウ　平清盛の威勢に反発した後白河法皇の近臣らは、鹿ケ谷の陰謀とよばれる平氏打倒をはかったが、失敗した。

エ　源頼朝の支配権の強大化を恐れ、一時は頼朝追討を命じたが、後に彼を征夷大将軍に任じた。

問 13　下線部⑬に関して、次の絵巻物ア～エの中からこの時期の作品をすべて選び、記号で答えよ。

ア


イ

ウ


エ

問 14　下線部⑭には、谷底に落ちても自分の命より平茸をとることを優先した信濃守藤原陳忠を強欲な人物として描いている。藤原陳忠のように任国に赴任する国司の最上級者を何というか、答えよ。

３　次のＡ～Ｅの文章を読み、文中の空欄（　１　）～（　６　）に適語を記入し、下の問１～問 14 の各問いに答えなさい。

Ａ　源頼朝の死後、頼朝の側近であった貴族出身の①大江広元・三善康信や有力御家人からなる 13 名が合議制で政治を運営し、のちに北条時政が執権として幕府の実権を握った。朝廷側の（　１　）上皇は朝廷政治の立て直しを図ろうとしたが、承久の乱で隠岐に配流された。乱後、幕府は畿内・西国へ支配を拡大し、②執権政治を強化した。また武士は、一族の代表者を中心として一門が団結する（　２　）制のもとで幕府の政治体制を支えた。③地頭に任命された武士は、荘園領主と対立しながら、支配権を拡大していった。

問１　下線部①について述べた文として正しいものを、次のア～エの中から一つ選び、記号で答えよ。

ア　初代問注所別当となり、鎌倉幕府の文書作成や財政を担当した。
イ　源義経追討を名目として、諸国に守護・地頭を設置することを源頼朝に進言した。
ウ　２代将軍源頼家の外戚として権勢を得たが、北条氏追討を計画して失敗した。
エ　朝廷と幕府の連絡係である議奏公卿として、摂家（藤原）将軍の選定に尽力した。

問２　下線部②について述べた次の文Ⅰ～Ⅲを年代の古い順に正しく配列したものを、下のア～カの中から一つ選び、記号で答えよ。

Ⅰ　源頼朝以来の先例や武家の慣習に基づいて、御成敗式目が制定された。
Ⅱ　執権を補佐する連署が置かれ、北条氏一門の有力者がこれに任命された。
Ⅲ　御家人たちの所領に関する訴訟を専門的に担当する引付衆が設置され、裁判の迅速化が図られた。

ア　Ⅰ－Ⅱ－Ⅲ　　イ　Ⅰ－Ⅲ－Ⅱ　　ウ　Ⅱ－Ⅰ－Ⅲ
エ　Ⅱ－Ⅲ－Ⅰ　　オ　Ⅲ－Ⅰ－Ⅱ　　カ　Ⅲ－Ⅱ－Ⅰ

問３　下線部③について、鎌倉時代の地頭が土地の支配を進めていく過程を、次の史料を参考にしながら 150 字以内で述べよ。

当郷の下地の所務においては、永代、地頭の請所職として、領家の御年貢の事、領家方の使者の入部の儀を停止せしめ、明年、※延慶二年より毎年四十五貫文のうち、年内二十五貫文、後年二月中に二十貫文、損否をいわず、毎年地頭の沙汰として懈怠なく、京進せしむべきものなり。

※延慶二年は西暦 1309 年　　『山内家文書』

Ｂ　右の絵は『一遍上人絵伝』の一場面である。④一遍は各地を遊行しつつ念仏を勧めた。この絵には、京都四条京極の釈迦堂の前に集まった大勢の武士や庶民が、一遍一行の踊念仏に熱狂している様子が描かれている。画面右には⑤祇園社の大鳥居が描かれており、画面左下には常設の小売店である（　３　）がみえる。



問４　下線部④と同時代に活躍した人物について述べた次の文Ｘ・Ｙについて、その人物の組み合わせとして正しいものを、下のア～エの中から一つ選び、記号で答えよ。

Ｘ　執権北条時頼の招きで南宋より来日し、建長寺の開山となった。
Ｙ　叡尊の弟子として戒律の復興に努めた。病人救済のため、北山十八間戸を設立した。

ア　Ｘ－無学祖元　　Ｙ－明恵　　イ　Ｘ－蘭渓道隆　　Ｙ－明恵
ウ　Ｘ－無学祖元　　Ｙ－忍性　　エ　Ｘ－蘭渓道隆　　Ｙ－忍性

問５　下線部⑤に関して、（１）・（２）の各問いに答えよ。

（１）祇園社で開催される祇園祭について述べた次の文の空欄 a に当てはまる語句を答えよ。

祇園社（八坂神社）の祇園祭はもともと御霊会といい、疫神や死者の怨霊などを鎮めるために 9 世紀半ばから始まった。室町時代の半ばには洛中洛外図屏風に見られるような山鉾巡行が成立したが、応仁の乱により 33 年間中断を余儀なくされた。京都の富裕な商工業者である a が中心となって、祇園祭の復活に力を注ぎ、1500 年に祭を復活させた。

（２）祇園社を本所と仰ぎ、年貢を納め祭礼に奉仕することで販売や製造における特権を得た座を一つ答えよ。

C　４代将軍⑥足利義持の時代は比較的安定した時代であったが、６代将軍足利義教は、鎌倉公方足利持氏を滅ぼす（　４　）の乱を起こすなど専制的な政治を行ったため、播磨の守護（　５　）によって殺害された。その後（５）は討伐されたが、将軍の権威は大きく失墜した。この頃、近畿地方を中心に徳政を求めて⑦一揆が頻発した。

問６　下線部⑥が中断した日明貿易に関して述べた文として正しいものを、次のア～エの中から一つ選び、記号で答えよ。

ア　日本が明の皇帝に朝貢し、その返礼として品物を受け取るという形式で行われ、この時大量の銅銭が日本にもたらされた。

イ　遣明船は、室町幕府が発行した勘合とよばれる証票を持参することが義務づけられた。

ウ　足利義満は側近の僧肥富を正使とし、博多の商人の祖阿を副使として明に派遣し、国交を開いた。

エ　幕府の衰退とともに、貿易の実権を握った細川氏と大内氏は寧波で衝突し、堺の商人と結んだ大内氏が貿易を独占した。

問７　下線部⑦に関して、一揆に関する次の文Ⅰ～Ⅲを年代の古い順に正しく配列したものを、下のア～カの中から一つ選び、記号で答えよ。

Ⅰ　一揆勢は守護の富樫政親を打倒し、その後約１世紀にわたって自治を行った。

Ⅱ　一揆勢は守護の畠山氏の軍を国外に退去させ、また新しく関所を作ることを禁じた。

Ⅲ　一揆勢が京都を占拠したため、幕府は初めて一揆勢の要求を受け入れて徳政令を発布した。

ア　Ⅰ－Ⅱ－Ⅲ　　イ　Ⅰ－Ⅲ－Ⅱ　　ウ　Ⅱ－Ⅰ－Ⅲ

エ　Ⅱ－Ⅲ－Ⅰ　　オ　Ⅲ－Ⅰ－Ⅱ　　カ　Ⅲ－Ⅱ－Ⅰ

D　室町文化は、⑧禅の精神を基調とした文化で、地方に普及した。応仁の乱後、荒廃した京都の公家らは、山口の大内氏をはじめとした⑨地方の戦国大名のもとに身を寄せ、中央の文化を広めた。教育においては、関東管領の（　６　）が足利学校を再興し、また地方の武士は子弟を寺院に預けて教育を施し、『庭訓往来』などを教科書として用いた。各地には城下町や門前町・寺内町が建設され、⑩堺や博多では豪商による自由都市が形成された。

問８　下線部⑧について、次の（１）・（２）の各問いに答えよ。

（１）臨済宗では坐禅の中で、師から与えられる問題を解決することで悟りに達するとされるが、右は妙心寺に所蔵されている絵で、師から出された課題（公案）を図示したものである。この絵を見て師が提示した課題はどのようなものであったか、簡潔に説明せよ。



（２）禅の精神について述べた文として正しいものを、次のア～エの中からすべて選び、記号で答えよ。なお、正しいものがなければオを答えよ。

ア　禅の精神を岩石と砂利の組み合わせで表現した枯山水があり、龍安寺石庭が有名である。

イ　東大寺を本所とした観世座の観阿弥・世阿弥親子は、洗練された芸の美を追求して芸術性の高い猿楽能を完成させた。

ウ　茶の湯では村田珠光が茶と禅の精神の統一を主張し、茶室で心の静けさを求める侘茶を創出した。

エ　絶海中津と義堂周信は足利義政のころに活躍し、禅の経典や漢詩文を五山版として出版した。

問９　下線部⑨について、文化を地方に広めた人物について述べた文として正しいものを、次のア～エの中から一つ選び、記号で答えよ。

ア　桂庵玄樹は島津氏に招かれ鹿児島で朱子学を教授し、海南学派を開いた。

イ　宗祇は大内氏の城下町である山口に招かれて連歌を興行した。その時の連歌が『菟玖波集』に収められている。

ウ　応仁の乱により奈良に逃れた一条兼良は、足利義尚の求めに応じて『樵談治要』を著した。

エ　奈良の商人饅頭屋宗二は、国語辞典の『応安新式』の刊本を出版した。

問10　下線部⑩について述べた次の文Ｘ・Ｙの正誤の組み合わせとして正しいものを、下のア～エの中から一つ選び、記号で答えよ。

Ｘ　堺は、ルイス＝フロイスの書簡によるとベニス市のように繁栄しており、36人の会合衆らによって自治が行われた。

Ｙ　博多は、室町時代に鎮西探題が置かれ、政治の中心地であった。戦国期は月行事によって自治が行われた。

ア　Ｘ－正　Ｙ－正　　イ　Ｘ－正　Ｙ－誤　　ウ　Ｘ－誤　Ｙ－正　　エ　Ｘ－誤　Ｙ－誤

E　大航海時代にポルトガル・スペインは、日本と⑪南蛮貿易を行った。この頃、わが国に鉄砲と⑫キリスト教が伝えられた。織田信長は武力による全国統一を目指したが、家臣の明智光秀に本能寺で暗殺された。後継者となった羽柴（豊臣）秀吉は、武力と朝廷の権威により全国統一を達成した。⑬太閤検地や刀狩を行って社会基盤を築いたが、二度の朝鮮出兵で政権は弱体化した。織豊政権の時代を中心とする文化を⑭桃山文化とよぶ。

問 11　下線部⑪について、右の地図中のXは、南蛮貿易での日本の主力輸出品の産地を示している。地図が指し示す場所（地名）を答えよ。

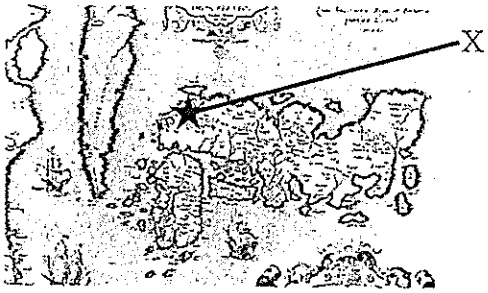

問 12　下線部⑫に関して述べた文として正しいものを、次のア～エの中から一つ選び、記号で答えよ。

ア　キリシタン大名の大友義鎮は、ヴァリニャーニの勧めによりローマ教皇のもとに天正遣欧使節を派遣した。
イ　サン＝フェリペ号の乗組員が、イギリスは領土拡張に宣教師を利用していると証言したため、元和の大殉教が起きた。
ウ　九州平定を終えた豊臣秀吉は、長崎が教会に寄進されたと聞き、全ての宣教師を例外なく国外追放に処した。
エ　ポルトガル人がもたらした南蛮屏風には、左に南蛮船を、右に仏寺風の南蛮寺を描くのが一般的であった。

問 13　下線部⑬について、豊臣秀吉が太閤検地や刀狩を通して実現を目指した社会改革は何か。漢字４字で答えよ。

問 14　下線部⑭について、次の作品X・Yの作者の組み合わせとして正しいものを、下のア～エの中から一つ選び、記号で答えよ。

X

Y

ア　X－狩野永徳　Y－俵屋宗達　　イ　X－狩野永徳　Y－長谷川等伯
ウ　X－狩野探幽　Y－俵屋宗達　　エ　X－狩野探幽　Y－長谷川等伯

４　次のＡ～Ｄの文章を読み、文中の空欄（　１　）～（　６　）に適語を記入し、下の問１～問14の各問いに答えなさい。

Ａ　17世紀初め、江戸に幕府が開かれると、３代将軍のころまでには①幕府の支配機構が整えられた。統制の対象は②大名・旗本などの武家だけではなく公家にも及び、朝廷にはその運営の基準を明示するとともに、朝廷・幕府の窓口として公家２名からなる（　１　）を通じて朝廷を操作した。また、宗教統制、③都市・村落支配を行い内治の安定を図った。さらに、④周辺国との外交関係の改善に努め、江戸後期の欧米列強の接近まで安定した時代が続いた。

問１　下線部①に関連して、江戸幕府の役職と人物に関して述べた文として正しいものを、次のア～エの中から一つ選び、記号で答えよ。

ア　三奉行のうち町奉行は原則として譜代大名から任じられたが、江戸町奉行で著名な大岡忠相は旗本出身であった。

イ　勘定吟味役として活躍した荻原重秀は、銀貨で初の計数貨幣である南鐐二朱銀の鋳造を進言した。

ウ　将軍の側用人として活躍した柳沢吉保は、徳川綱吉から与えられた屋敷に六義園を造営した。

エ　水野忠邦が老中在職時に、長崎でナポレオン戦争の影響によるイギリス船侵入事件が起こった。

問２　下線部②に関連して、岡山藩主池田光政が藩士・庶民教育のために設けた郷校（郷学）を答えよ。

問３　下線部③に関連して、江戸幕府の政策について述べた次の文Ｘ・Ｙの正誤の組み合わせとして正しいものを、下のア～エの中から一つ選び、記号で答えよ。

Ｘ　町人地は町方ともよばれ、町ごとに家持町人による五人組を組織させた。この組織を主体として、町人は防災・治安など都市機能を支えるための夫役を負担した。

Ｙ　百姓には本田畑と家屋敷地にかけられる本途物成を課した。また、年貢徴収を確実に行うことを目的に田畑永代売買の禁止令を出した。

ア　Ｘ－正　Ｙ－正　　イ　Ｘ－正　Ｙ－誤　　ウ　Ｘ－誤　Ｙ－正　　エ　Ｘ－誤　Ｙ－誤

問４　下線部④に関して、江戸時代の日本と周辺国との関係について述べた文として正しいものを、次のア～エの中からすべて選び、記号で答えよ。なお、正しいものがなければオを答えよ。

ア　対馬の宗氏を通じて結ばれた己酉約条で朝鮮との貿易を再開し、釜山に倭館が設置され、朝鮮から通信使が派遣された。

イ　琉球は事実上薩摩藩の支配下に入ったが、中国王朝には慶賀使、幕府には謝恩使を派遣し、独立国の体裁は保たれた。

ウ　18世紀後半、長崎出島での清との貿易政策が転換され、俵物を輸出して貨幣鋳造のための銀・銅輸入が図られた。

エ　18世紀末以降、ロシアとの関係が緊張すると、幕府は蝦夷地を直轄地とし、間宮林蔵に樺太探査を命じた。

Ｂ　17世紀半ば以降、⑤４代将軍の頃になると幕府政治の転換が図られ、その政治的傾向は５代将軍にも引き継がれた。短命の６代将軍、幼少の７代将軍の時代おいては、学者で『読史余論』を著した（　２　）が中心となって、将軍職の地位と権威を高めるなど、家格や身分を重視する政治を展開した。17世紀後半以降、⑥富裕な上方町人を主体とする文化が発展したが、それは⑦農業・手工業生産が拡大し、⑧全国を結ぶ交通網が整えられ、商業が発展したことが背景にあった。

問５　下線部⑤に関して、幕府政治の転換の内容を、その背景と契機となった事件を含めて150字以内で説明せよ。

問６　下線部⑥の文化に関わる作品とその説明として正しいものを、表中の選択肢ア～エの中から一つ選び、記号で答えよ。

選択肢	ア	イ	ウ	エ
作品		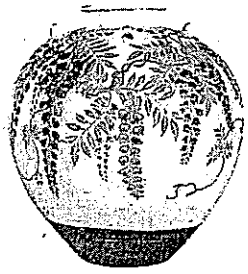		
説明	宮崎友禅が創始した技法を用いて制作された振袖	赤絵の技法が用いられた柿右衛門様式の茶壺	鈴木春信による多色刷り浮世絵版画の美人画	葛飾北斎による大首絵の技法を用いた役者絵

問７　下線部⑦に関して、17 世紀末に日本初の体系的農書である『農業全書』を著した人物を答えよ。

問８　下線部⑧について述べた文として正しいものを、次のア～エの中からすべて選び、記号で答えよ。なお、正しいものがなければオを答えよ。

ア　五街道が整備され、主要な宿場町には旅籠屋・木賃宿が置かれ、参勤交代の大名が利用した。

イ　東海道の交通の要所であった箱根・新居には関所が置かれ、徴収された関銭は幕府の主な収入源となった。

ウ　大坂と江戸を結ぶ東廻り海運では、江戸十組問屋の専用船として菱垣廻船が活躍した。

エ　幕府は大坂に越荷方を設置して、北前船などの廻船を相手に委託販売することで収益をあげた。

C　18 世紀以降、幕府財政の立て直しなどのため⑨幕政の改革が進められた。しかし、大塩の乱のきっかけとなった（　3　）の飢饉では全国的な米不足をまねき、百姓一揆・打ちこわしが続発したが、⑩これに対して幕府は適切な対策を実施できなかった。その一方、薩摩藩では下級武士の調所広郷が登用され、三都の商人からの借財の棚上げ、奄美三島特産の（　4　）の専売の強化などで藩の財政を立て直した。このように藩政改革に成功した藩の多くは⑪幕末の政局の中心となり、⑫明治新政府においても活躍する多くの人物を輩出した。

問９　下線部⑨について、次のⅠ～Ⅲの狂歌で触れられている内容を時代の古い順に正しく配列したものを、下のア～カの中から一つ選び、記号で答えよ。

Ⅰ　どこまでもかゆき所にゆきとゞく　徳のある君の孫の手なれば

Ⅱ　上げ米といへ上米は気に入らず　金納ならばしじうくろうぞ

Ⅲ　白河の岸打つ波に引換て　浜松風の音の烈しさ

ア　Ⅰ－Ⅱ－Ⅲ　　イ　Ⅰ－Ⅲ－Ⅱ　　ウ　Ⅱ－Ⅰ－Ⅲ

エ　Ⅱ－Ⅲ－Ⅰ　　オ　Ⅲ－Ⅰ－Ⅱ　　カ　Ⅲ－Ⅱ－Ⅰ

問 10　下線部⑩に関して、この時期の幕府の政策として正しいものを、次のア～エの中から一つ選び、記号で答えよ。

ア　人返しの法によって、正業をもたない者に資金を与え、農村への帰郷を奨励した。

イ　財政の安定や対外防備の強化のため、上知令を出して江戸・大坂周辺の 50 万石の地の直轄化をめざした。

ウ　財源確保のため、幕府は五品江戸廻送令を出し、自由取引で逆上・冥加の増収を図った。

エ　海舶互市新例によって長崎貿易を制限し、金銀の流出を防ぐことで物価を抑制しようとした。

問 11　下線部⑪について、池田屋事件を契機として長州藩が京に藩兵を攻め上らせるも、1864 年、幕府側と戦って敗走した出来事を何というか、答えよ。

問 12　下線部⑫について述べた文として正しいものを、次のア～エの中からすべて選び、記号で答えよ。なお、正しいものがなければオを答えよ。

ア　薩摩藩出身の西郷隆盛は、大久保利通と征韓論をめぐって対立し、明治六年の政変で板垣退助らと下野した。

イ　長州藩出身の木戸孝允は、琉球処分後に発生した琉球漂流民殺害事件の報復として計画された台湾出兵に反対し下野した。

ウ　土佐藩出身の黒田清隆は、開拓使官有物払下げ事件で政商岩崎弥太郎との関係を疑われ、その責任を追及された。

エ　佐賀藩出身の大隈重信は、外務大臣として法権回復を目指して条約改正交渉にあたったが、玄洋社の青年に襲撃された。

D　明治期の日本は、国内的には⑬立憲政体樹立と国会開設、対外的には 1875 年にロシアとの間に締結された（　5　）などの国境画定、対外戦争での勝利や条約改正をへて、列強への道をたどった。農村では、大地主が耕作から離れて小作料の収入に依存する（　6　）となる動きも進み、集積された富が起業や公債・株式への投資にも向けられ、農村社会と資本主義との結びつきが深まるなど、社会の変容とともに⑭明治期は近代化が加速した時代であった。

問 13　下線部⑬に関連して、内閣制度創設から国会開設に至るまでの国内の政治動向について述べた文として正しいものを、次のア～エの中から一つ選び、記号で答えよ。

ア　立志社・愛国社の流れをくむ人々が集まり、板垣退助を党首とする自由党が結成された。

イ　国会期成同盟が結成され、天皇宛の国会開設請願書を提出しようとした。

ウ　内閣に工部省が設置され、開港場と近隣の大都市を結ぶ鉄道網が整備された。

エ　天皇の諮問機関として枢密院が設置され、第２代議長には大木喬任が就任した。

問 14　下線部⑭に関連して、明治期の経済・文化について述べた次の文ａ～ｄのうち、正しいものの組み合わせを、下のア～エの中から一つ選び、記号で答えよ。

ａ　紡績業では渋沢栄一が大阪紡績会社を設立して以後、機械制生産が急増し、日清戦争までには輸出量が輸入量を上回った。

ｂ　鉱業では古河市兵衛が足尾銅山を買い取り、銅の産出量が急増したが、渡良瀬川流域で鉱毒による被害をもたらした。

ｃ　辰野金吾が設計した日本銀行本店など、都市部を中心に本格的な西洋建築がつくられた。

ｄ　『現代日本文学全集』などの円本や岩波文庫が登場して、低価格・大量出版の先駆けとなった。

ア　ａ・ｃ　　イ　ａ・ｄ　　ウ　ｂ・ｃ　　エ　ｂ・ｄ

５　次のＡ～Ｅの文章を読み、文中の空欄（　１　）～（　５　）に適語を記入し、下の問１～問14の各問いに答えなさい。

Ａ　①余ハ日露非開戦論者である許りではない、戦争絶対廃止論者である。戦争ハ人を殺すことである。そうして人を殺すことハ大罪悪である。・・・勿論、②サーベルが政権を握る今日の日本に於いて、余の戦争廃止論が直ぐに行はれようとハ余と雖も望まない。然しながら戦争廃止論ハ今や文明国の識者の輿論となりつゝある。　『万朝報』

問１　下線部①の人物として正しいものを、次のア～エの中から一つ選び、記号で答えよ。

ア　徳富蘇峰　　イ　戸水寛人　　ウ　北一輝　　エ　内村鑑三

問２　下線部②について、この政権（内閣）について述べた文として正しいものを、次のア～エの中からすべて選び、記号で答えよ。なお、正しいものがなければオを答えよ。

ア　文官任用令を改正して高級官吏の資格規定を設け、官僚組織への政党の影響力を弱めようとした。
イ　共和演説事件で批判を受けた尾崎行雄文部大臣が辞職し、後任をめぐる対立から憲政党が分裂した。
ウ　『時事新報』の創刊者であった幸徳秋水などの社会主義者や無政府主義者を大逆罪で検挙した。
エ　全国鉄道網の統一的管理をめざす鉄道国有法を公布し、主要幹線の民営鉄道を国有化した。

問３　文章Ａの以前の東アジア情勢について述べた次の文Ｘ・Ｙの正誤の組み合わせとして正しいものを、下のア～エの中から一つ選び、記号で答えよ。

Ｘ　アメリカの国務長官ジョン=ヘイが中国に関する門戸開放・機会均等を提案して、各国の勢力範囲内での通商の自由を求めた。
Ｙ　清国では「扶清滅洋」をとなえる義和団が勢力を増して北京の外国公使館を包囲した。後に清国政府もこれに同調して宣戦布告した。

ア　Ｘ－正　Ｙ－正　　イ　Ｘ－正　Ｙ－誤　　ウ　Ｘ－誤　Ｙ－正　　エ　Ｘ－誤　Ｙ－誤

Ｂ　第一次世界大戦後、戦勝国が中心となって③東アジア・太平洋地域での国際協調の枠組みがつくられ、日本は複数の内閣で外相を務めた（　１　）を中心に協調外交を展開した。また、国内ではデモクラシーの動きや④政党政治の展開を背景として、⑤大衆文化や多様な学問・芸術が登場した。

問４　下線部③に関して、四カ国条約・九カ国条約について述べた文として正しいものを、次のア～エの中からすべて選び、記号で答えよ。なお、正しいものがなければオを答えよ。

ア　四カ国条約の締結によって、桂・タフト協定が廃棄された。
イ　四カ国条約の原則に従って、日本は中国の関税自主権を認めた。
ウ　九カ国条約の締結によって、石井・ランシング協定が廃棄された。
エ　九カ国条約の原則に従って、山東省の旧ドイツ権益を中国に返還した。

問５　下線部④に関して、「憲政の常道」とよばれる時期の出来事について述べた次の文Ⅰ～Ⅲを年代の古い順に正しく配列したものを、下のア～カの中から一つ選び、記号で答えよ。

Ⅰ　国体の変革や私有財産制度の否認を目的とする結社の取り締まりに関する法律が制定された。
Ⅱ　日本が歴史上初めて社会主義国家と国交を樹立した。
Ⅲ　内閣の主導で共産党員を一斉検挙し、日本労働組合評議会などの関係団体を解散させた。

ア　Ⅰ－Ⅱ－Ⅲ　　イ　Ⅰ－Ⅲ－Ⅱ　　ウ　Ⅱ－Ⅰ－Ⅲ
エ　Ⅱ－Ⅲ－Ⅰ　　オ　Ⅲ－Ⅰ－Ⅱ　　カ　Ⅲ－Ⅱ－Ⅰ

問６　下線部⑤に関して述べた文として誤っているものを、次のア～エの中から一つ選び、記号で答えよ。

ア　ラジオ放送が始まり、日本放送協会（ＮＨＫ）が設立され、東京六大学野球の実況中継などが人気を呼んだ。
イ　映画は活動写真とよばれ、海外の無声映画の上映だけでなく、国産映画も制作されるようになった。
ウ　和辻哲郎が、民間伝承・風俗習慣などを研究して庶民の生活史を明らかにし、日本における民俗学の確立に貢献した。
エ　第一次世界大戦期に染料・薬品の輸入が途絶えたため、国内で独自の研究が始まり、理化学研究所が設立された。

C　大戦景気後、日本は相次ぐ恐慌にみまわれた。金融恐慌では田中内閣が３週間の（　2　）を発してこれをしずめたが、1929 年にアメリカから始まった世界恐慌は、日本における [A] も相まって、国内経済に深刻な打撃を与えた。これに政党内閣が有効な対策を打てなかったことは、政党政治への不信につながった。また、1930 年に浜口内閣が補助艦の保有量を制限する（　3　）条約を結ぶと、国内で軍や右翼から強い非難が起こった。そして、1931 年の [B] 事件から始まる満州事変以降、国内では実力で政党政治を打破して軍部中心の国家改造を求める動きが強まった。

問７　文中の空欄 [A]・[B] に入る語句の組み合わせとして正しいものを、次のア～エの中から一つ選び、記号で答えよ。

ア　Ａ－金輸出解禁　　Ｂ－盧溝橋　　イ　Ａ－金輸出解禁　　Ｂ－柳条湖
ウ　Ａ－金輸出再禁止　　Ｂ－盧溝橋　　エ　Ａ－金輸出再禁止　　Ｂ－柳条湖

問８　文章Ｃに関連じて、次の史料Ⅰ～Ⅴは永井荷風の日記『断腸亭日乗』（1917～1959 年）の一部である。史料について、下の（1）～（3）の各問いに答えよ。（出題の都合上、史料を一部改変）

史料Ⅰ

五時半頃陸海軍の士官五、六名首相官邸に乱入し犬養を射殺せしといふ。警視庁及び政友会本部にも同刻に軍人乱入したる由。・・・近年頻に暗殺の行はるること維新前後の時に劣らず。然れども兇漢は大抵政党の壮士または血気の書生らにして、今回の如く軍人の共謀によりしものは、明治十二年竹橋騒動以降かつて見ざりし珍事なり。

史料Ⅱ

十二月十四日。曇りて寒し。・・・夜銀座にて往くに号外売頻に街上を走るを見る。聖上崩御の時近きを報ずるものなるべし。頃日の新聞紙朝夕陛下の病状を報道すること精細を極む。
十二月二十五日。・・・昨夜深更聖上崩御の公報出で、銀座通の商舗今朝より休業。・・・余昨夜より家を出でず、また新聞見ざるを以て、ここに始めて諒闇の事を知る。

史料Ⅲ

九月朔。・・・日まさに午ならむとする時天地忽鳴動す。・・・予もまた徐に逃走の準備をなす。時に大地再び震動す。書巻を手にせしまま表の戸を排いて庭に出でたり。数分間にしてまた震動す。身体の動揺さながら船上に立つが如し。・・・愛宕山に登り市中の火を観望す。・・・赤坂溜池の火は既に葵橋に及べり。・・・。
十月三日。・・・阪上に立つて来路を顧みれば一望唯渺々たる焦土にして、房総の山影遮るものなければ近く手に取るが如し。帝都荒廃の光景哀れというも愚かなり。

史料Ⅳ

軍人警視庁を襲ひ同時に朝日新聞社日々新聞社等を襲撃したり。各省大臣官舎及三井邸宅等には兵士出動して護衛をなす。・・・市中騒擾の光景を見に行きたくは思へど降雪と寒気とをおそれ門を出でず。・・・九時頃号外出づ。岡田斎藤殺され高橋重傷鈴木侍従長また重傷せし由。

史料Ⅴ

英外交官 【 a 】の維新外交史は幕末維新の事を知らむとするもの必ず一読せざるべからざる良書なり。日本人の著述に見ること能はざる秘事多きのみならず、その観察飽くまでも公平にしてその記事極めて素直なれば、読み行く中に時代の変遷するさま、さながら大河の岸に立ちて流れ行く水を見るが如き思ひをなさしむ。・・・余は明治維新の史伝に就いて邦人の著したるものにては、岡千仞の『草擢紀事』と田口鼎軒（卯吉）の【 b 】とを以て最も公平無私の良書となすなり。

（1）史料Ⅰ～Ⅲについて、年代の古い順に正しく配列したものを、次のア～カの中から一つ選び、記号で答えよ。

ア　Ⅰ－Ⅱ－Ⅲ　　イ　Ⅰ－Ⅲ－Ⅱ　　ウ　Ⅱ－Ⅰ－Ⅲ
エ　Ⅱ－Ⅲ－Ⅰ　　オ　Ⅲ－Ⅰ－Ⅱ　　カ　Ⅲ－Ⅱ－Ⅰ

（2）史料Ⅳの下線の人物が 1935 年に出した、天皇機関説を否認する声明を何というか、答えよ。

（3）史料Ⅴの【 a 】・【 b 】に入る語句の組み合わせとして正しいものを、次のア～エの中から一つ選び、記号で答えよ。

ア　a－ボアソナード　　b－『日本政治思想史研究』　　イ　a－ボアソナード　　b－『日本開化小史』
ウ　a－アーネスト・サトウ　　b－『日本政治思想史研究』　　エ　a－アーネスト・サトウ　　b－『日本開化小史』

高等学校教諭等　地理歴史
日 本 史

D　1937年の⑥日中両軍の北京郊外での軍事衝突は、日中両国の全面戦争へと拡大していった。翌年、近衛内閣はこの戦争の目的を日・満・華３国連帯による「（　４　）」の建設にあるとの声明を発した。⑦日本は対外的にはヨーロッパ情勢の変化を踏まえてアメリカと対峙しつつ、国内的には⑧戦時体制への移行を進めていった。

問９　下線部⑥以後に起きた出来事として正しいものを、次のア～エの中からすべて選び、記号で答えよ。なお、正しいものがなければオを答えよ。

ア　河本大作らの画策によって奉天郊外で列車が爆破され、張作霖が殺害された。
イ　アメリカが、航空機用ガソリンや屑鉄の対日輸出禁止措置をとった。
ウ　新興財閥が成長するきっかけとなった重要産業統制法が制定された。
エ　企画院で作成された物資動員計画に基づき、軍需品が優先的に生産されるようになった。

問10　下線部⑦に関して、日本とドイツ・ソ連との関係について述べた次の文Ⅰ～Ⅲを年代の古い順に正しく配列したものを、下のア～カの中から一つ選び、記号で答えよ。

Ⅰ　ヨーロッパ戦線でのドイツの進撃を受け、日本軍は北部仏印に進駐した。
Ⅱ　独ソ不可侵条約が締結されたため、平沼内閣は総辞職した。
Ⅲ　ソ連・満州国境不明確地帯で、日本陸軍とソ連軍が衝突した張鼓峰事件が起きた。

ア　Ⅰ－Ⅱ－Ⅲ　　イ　Ⅰ－Ⅲ－Ⅱ　　ウ　Ⅱ－Ⅰ－Ⅲ
エ　Ⅱ－Ⅲ－Ⅰ　　オ　Ⅲ－Ⅰ－Ⅱ　　カ　Ⅲ－Ⅱ－Ⅰ

問11　下線部⑧に関連して、次の史料中の下線部の「本会」とは何を指すか、答えよ。

今や世界の歴史的転換期に直面し、八紘一宇の顕現を国是とする皇国は、一億一心、全能力をあげて天皇に帰一し奉り、物心一如の国家体制を確立し、以て光輝ある世界の道義的指導者たらんとす。茲に本会は互助相誠皇国臣民たるの自覚に徹し、率先して国民の推進力となり、常に政府と表裏一体協力の関係にたち、上意下達、下情上通を図り、以て高度国防国家の実現に務む。　（出題の都合上、出典省略）

E　第二次世界大戦後、⑨アメリカを中心とする連合国軍の占領下にあった日本は、物資不足とインフレに悩まされた。政府は（　５　）を発して新旧円の流通量を減らそうとしたが効果は一時的であり、しばらく経済の混乱が続いた。その後、主権を回復した日本は、アメリカの対アジア政策に協力する姿勢をとり、⑩自由民主党が1990年代前半まで単独で政権を担う時代が続くと、日米の外交関係も安定した。この間、日本は対米輸出による貿易黒字を拡大させたが、同時にアメリカとの間で⑪貿易摩擦を深刻化させることとなった。

問12　下線部⑨に関して、敗戦国日本に対する連合国の占領方式の特徴について、ドイツとの相違点を踏まえて100字以内で説明せよ。

問13　下線部⑩に関連して、この時代の日本について述べた文として正しいものを、次のア～エの中から一つ選び、記号で答えよ。

ア　１ドル360円の単一為替レートが設定され、日本経済はブレトン＝ウッズ体制のもとで国際経済との結びつきを強めた。
イ　アメリカと結んだＭＳＡ協定で日本の自衛力の強化が義務付けられ、警察予備隊が保安隊に改組された。
ウ　池田内閣は「寛容と忍耐」をとなえて、「所得倍増」をスローガンに高度成長を促す政策を実施した。
エ　田中内閣は日中平和友好条約を締結し、中華人民共和国政府を中国唯一の合法政府であると認めた。

問14　下線部⑪を象徴する、1980年代における日本のアメリカへの主要な輸出品で、不買運動の対象にもなったものは何か、その製品を答えよ。

令和6年度佐賀県公立学校教員採用選考試験

専門試験Ⅰ　解答用紙

高等学校教諭等

地理歴史

日　本　史

令和６年度佐賀県公立学校教員採用選考試験
専門試験Ⅰ　解答用紙及び解答例

高等学校教諭等　地理歴史　共　通

受験番号

1

(1)	(2)	(3)	(4)	(5)
ウ	イ	エ	ア	ウ
(6)	(7)	(8)	(9)	(10)
ウ	イ	ウ	ウ	イ
(11)	(12)	(13)	(14)	(15)
ア	エ	ア	ウ	ウ
(16)	(17)	(18)	(19)	(20)
エ	ア	ウ	エ	ア

各2点（20問40点）

令和６年度佐賀県公立学校教員採用選考試験
専門試験Ⅰ　解答用紙及び解答例

高等学校教諭等　地理歴史　日本史

受験番号

2. （1）～（6）、問６、問14…各１点×８
問１，問３、問４、問７～問12…各２点×９
問13…３点 / 問２…５点 / 問５…６点

(1)	(2)	(3)	(4)
イヌ（犬）	七支刀	鎮護国家	藤原良房
(5)	(6)	問１	
梁塵秘抄	田楽	ウ	

問２
生物体は大気中と同じ濃度の放射性炭素14を体内に持つが、死ぬと一定の割合で減少するという原理を利用して、炭素14の残存量を測定し、死後経過した年数を算出する方法。

問３	問４
カ	イ

問５

2	つ	の	木	簡	か	ら	地	方	行	政	区	画	の	表	記	と	し	て	、	20
大	宝	律	令	施	行	前	は	評	、	施	行	後	は	郡	と	い	う	文	字	40
が	使	わ	れ	て	い	た	こ	と	が	わ	か	る	が	、	6	4	6	年	に	60
出	さ	れ	た	改	新	の	詔	は	、	大	宝	律	令	施	行	前	で	あ	る	80
に	も	関	わ	ら	ず	、	郡	が	使	わ	れ	て	い	る	こ	と	。			100字

問６	問７	問８	問９
法隆寺（斑鳩寺）	ウ	ウ	ア
問10	問11	問12	問13
エ	イ	エ	ア・イ・ウ

問14
受領

令和６年度佐賀県公立学校教員採用選考試験
専門試験Ⅰ　解答用紙及び解答例

高等学校教諭等　地理歴史　日本史

受験番号

3　(1)～(6)、問５ (1)(2) 、問８(1)、問11、問13…各１点×11
問１、問２、問４、問６、問７、問９、問10、問12、問14…各２点×９
問８(2)…３点 / 問３…８点

(1)	(2)	(3)	(4)
後鳥羽	惣領	見世棚	永享
(5)	(6)	問１	問２
赤松満祐	上杉憲実	イ	ウ

問３

地	頭	の	荘	園	侵	略	が	激	し	く	な	る	と	、	荘	園	領	主	は	20
地	頭	に	現	地	の	管	理	を	一	任	す	る	か	わ	り	に	一	定	額	40
の	年	貢	納	入	を	義	務	付	け	る	地	頭	請	の	契	約	を	結	ん	60
だ	。	ま	た	、	地	頭	が	実	力	で	荘	園	全	て	を	支	配	し	て	80
し	ま	う	こ	と	を	防	ぐ	た	め	、	土	地	を	折	半	し	て	支	配	100
す	る	下	地	中	分	の	契	約	を	結	ん	だ	。	こ	の	よ	う	な	契	120
約	に	よ	り	、	地	頭	は	在	地	領	主	と	し	て	の	性	格	を	一	140
層	強	め	て	い	っ	た	。			150字										

問４	問５（１）	問５（２）	問６
エ	町衆	祇園社綿座神人 （材木座、練絹座、小袖座、袴座、菓子座、釜座）	ア
問７	問８（１）		
カ	いかにしてひょうたんでナマズを捕まえるか。		
問８（２）	問９	問10	問11
ア・ウ	ウ	エ	石見 （石見大森銀山）
問12	問13	問14	
ア	兵農分離	イ	

令和６年度佐賀県公立学校教員採用選考試験
専門試験Ⅰ　解答用紙及び解答例

高等学校教諭等　地理歴史　日本史

受験番号

4　(1)～(6)，問２，問７，問11…各１点×９／
問１，問３，問６，問９～10，問13～14…各２点×７／
問４，問８，問12…各３点×３／問５…８点

(1)	(2)	(3)	(4)
武家伝奏	新井白石	天保	黒砂糖（砂糖）
(5)	(6)	問１	問２
樺太・千島交換条約	寄生地主	ウ	開谷学校
問３	問４		
ウ	ア・エ		

問５

江	戸	初	期	に	武	家	諸	法	度	違	反	で	多	く	の	大	名	の	改	20
易	や	減	封	が	行	わ	れ	、	主	家	を	失	っ	た	牢	人	の	不	満	40
が	増	大	す	る	中	、	兵	学	者	由	井	正	雪	に	よ	る	幕	府	転	60
覆	計	画	で	あ	る	慶	安	の	変	が	起	こ	っ	た	。	こ	の	事	件	80
を	受	け	、	幕	府	は	大	名	の	末	期	養	子	の	禁	止	を	緩	和	100
し	、	さ	ら	に	武	家	諸	法	度	を	改	め	儒	教	思	想	に	基	づ	120
く	忠	孝	・	礼	儀	を	重	視	す	る	文	治	主	義	へ	の	転	換	を	140
は	か	っ	た	。						150字										

問６	問７	問８	問９
ア	宮崎安貞	オ	ウ
問10	問11	問12	問13
イ	禁門の変（蛤御門の変）	ア・エ	エ
問14			
ウ			

令和６年度佐賀県公立学校教員採用選考試験
専門試験Ⅰ　解答用紙及び解答例

高等学校教諭等　地理歴史　日本史

受験番号

5　（１）～（５），問１，問８(2)，問11，問14…各１点×９／
問３，問５～７，問８(1)・(3)，問10，問13…各２点×８／
問２，問４，問９，…各３点×３，問12・・・６点

(1)	(2)	(3)	(4)
幣原喜重郎	モラトリアム（支払猶予令）	ロンドン海軍軍縮	東亜新秩序
(5)	問１	問２	問３
金融緊急措置令	エ	オ	ア
問４	問５	問６	問７
ウ・エ	ウ	ウ	イ
問８（１）	問８（２）	問８（３）	問９
カ	国体明徴声明	エ	イ・エ
問10	問11		
カ	大政翼賛会		

問12

ド	イ	ツ	は	戦	勝	国	に	よ	っ	て	分	割	占	領	さ	れ	、	直	接	20
軍	政	が	行	わ	れ	た	が	、	日	本	は	ア	メ	リ	カ	に	よ	る	事	40
実	上	の	単	独	占	領	で	、	G	H	Q	の	指	令	・	勧	告	に	も	60
と	づ	い	て	日	本	政	府	が	政	治	を	行	う	、	間	接	統	治	の	80
方	法	が	と	ら	れ	た	。													100字

問13	問14
ウ	自動車