令和６年度

福岡県公立学校教員

採用候補者選考試験問題

中　学　校　社　会

1　中学校社会の問題は下記のとおりです。
　　択一問題　問１～問18まで
　　記述問題　問19～問23まで

2　択一問題は，全て「ＯＣＲ解答用紙」に記入してください。

3　記述問題は，全て「解答用紙（記述用）」に記入してください。

問１ ～ 問18 の解答は，全て [　　] の①～⑤から一つ選び，その番号を「ＯＣＲ解答用紙」にマークしなさい。

問１　次の文は，中学校学習指導要領解説社会編（平成29年文部科学省）「第２章　社会科の目標及び内容」「第２節　各分野の目標及び内容」「１　地理的分野の目標，内容及び内容の取扱い」の一部を抜粋したものである。文中の（　ア　）～（　オ　）に当てはまる語句の正しい組合せを選びなさい。ただし，同じ記号には同じ語句が入る。

> 我が国の国土及び世界の諸地域に関してについては，平成20年改訂の趣旨を引き継いで，中学校社会科の地理的分野が我が国の国土と世界の諸地域の両方を学習対象とすることを示している。ここで言う「国土」とは，山地，平野，海岸などの自然物からなる土地それ自体だけを指すのではなく，そこに居住し生活する人々及び社会の実態や，人間の土地への（　ア　）を含めたものである。
>
> 地域の諸事象や地域的特色を理解するについては，後述する「多面的・多角的に考察したり，地理的な課題の解決に向けて公正に（　イ　）したりする」学習過程を前提に，地域に関わる諸事象や特色を理解することを意味している。「地域的特色」は，大きく見ると，地域の環境条件，他地域との結び付き及びそこに居住してより豊かな生活を実現するために努力している人々の（　ウ　）との関わりの中で生み出され，地域の環境条件，他地域との結び付き，人々の（　ウ　）が相互に影響を及ぼしながら地域的特色は形成され，（　エ　）している。よって，（　オ　）の狭い学習により，単に地理的な知識を詰め込むのではなく，広い（　オ　）に立ち，地域に関わる諸事象や特色を理解することが大切である。

	ア	イ	ウ	エ	オ
①	対応の仕方	選別・決断	営　み	変　化	見　識
②	順応力	選択・判断	生　業	変　容	見　識
③	対応の仕方	選択・判断	営　み	変　容	視　野
④	対応の仕方	選別・決断	生　業	変　化	視　野
⑤	順応力	選択・判断	営　み	変　化	視　野

問２　次の文は，中学校学習指導要領解説社会編（平成29年文部科学省）「第２章　社会科の目標及び内容」「第２節　各分野の目標及び内容」「２　歴史的分野の目標，内容及び内容の取扱い」の一部を抜粋したものである。文中の（　ア　）～（　オ　）に当てはまる語句の正しい組合せを選びなさい。ただし，同じ記号には同じ語句が入る。

> よりよい（　ア　）を視野にそこで見られる課題を（　イ　）追究，解決しようとする態度を養うについては，教科目標に「社会的事象について，よりよい（　ア　）を視野に課題を（　イ　）解決しようとする態度を養う」と示されたことを受けて，歴史に関わる諸事象について，生徒自らが関心をもって学習に取り組むことができるようにするとともに，学習を通して更に関心を高めるよう指導を工夫することを示している。
>
> 多面的・多角的な考察や深い理解とは，社会科の学習における考察や理解の特質を示している。そして，そうした学習を通して（　ウ　）される我が国の歴史に対する愛情，国民としての（　エ　），国家及び社会並びに文化の発展や人々の生活の向上に尽くした歴史上の人物と現在に伝わる（　オ　）を尊重しようとすることの大切さについての（　エ　）などを深め，「学びに向かう力，人間性等」を養うことを示している。

	ア	イ	ウ	エ	オ
①	生活の達成	対話して	涵　養	矜　持	年中行事
②	社会の実現	主体的に	涵　養	自　覚	年中行事
③	生活の達成	対話して	育　成	自　覚	年中行事
④	社会の実現	主体的に	涵　養	自　覚	文化遺産
⑤	社会の実現	対話して	育　成	矜　持	文化遺産

問３　次の《表》は，中学校学習指導要領解説社会編（平成29年文部科学省）「参考資料３　社会的事象等について調べまとめる技能」の一部を抜粋したものである。文中の（　ア　）～（　オ　）に当てはまる語句の正しい組合せを選びなさい。ただし，同じ記号には同じ語句が入る。

《表》

		技能の例（小・中・高等学校）
情報を読み取る技能	収集した情報を社会的な見方・考え方に沿って読み取る技能	【１】情報全体の傾向性を踏まえて ・位置や分布，広がり，形状などの全体的な傾向を読み取る ・量やその変化，区分や移動などの全体的な傾向を読み取る ・博物館や郷土資料館等の展示品目の配列から，展示テーマの（　ア　）を読み取る 【２】必要な情報を選んで ○事実を（　イ　）読み取る ・形状，色，数，種類，大きさ，名称などに関する情報を読み取る ・方位，記号，高さ，区分などを読み取る（地図） ・年号や時期，前後関係などを読み取る（年表） ○有用な情報を選んで読み取る ・学習上の課題の解決につながる情報を読み取る ・諸情報の中から，（　ウ　）情報を選別して読み取る ○信頼できる情報について読み取る 【３】複数の情報を見比べたり（　エ　）たりして ・異なる情報を見比べ（時期や範囲の異なる地域の様子など）たり，（　エ　）（地形条件と土地利用の様子など）たりして読み取る ・同一の事象に関する異種の資料（グラフと文章など）の情報を見比べたり（　エ　）たりして読み取る ・同種の資料における異なる表現（複数の地図，複数のグラフ，複数の新聞など）を見比べたり（　エ　）たりして読み取る 【４】資料の（　オ　）に留意して ・地図の主題や示された情報の種類を踏まえて読み取る ・歴史資料の作成目的，作成時期，作成者を踏まえて読み取る ・統計等の単位や比率を踏まえて読み取る

	ア	イ	ウ	エ	オ
①	趣　旨	正確に	目的に応じた	結び付け	特　性
②	趣　旨	正確に	様々な	統合し	特　性
③	主　張	詳細に	目的に応じた	統合し	特　性
④	主　張	詳細に	目的に応じた	結び付け	重要度
⑤	趣　旨	詳細に	様々な	結び付け	重要度

※　次の略地図を見て，問４に答えなさい。

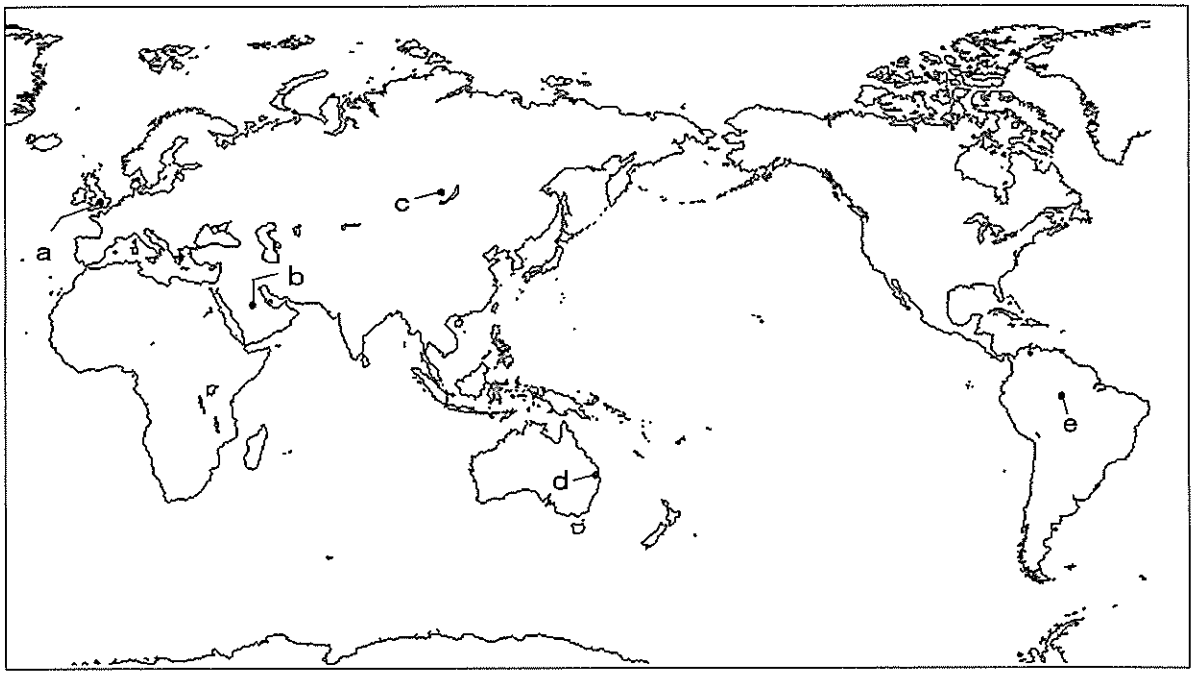

問４　次の《資料》のア～オは，略地図中ａ～ｅのいずれかの都市の雨温図（1991年～2020年の平年値）を示している。ア～オに当てはまる都市の正しい組合せを選びなさい。

《資料》

ア

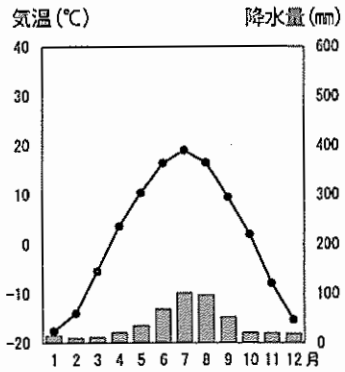

年平均気温　1.4℃
年降水量　471.8mm

イ

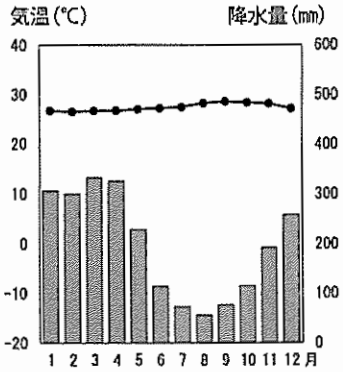

年平均気温　27.5℃
年降水量　2381.2mm

ウ

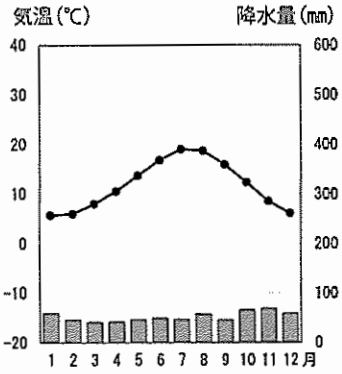

年平均気温　11.8℃
年降水量　633.4mm

エ

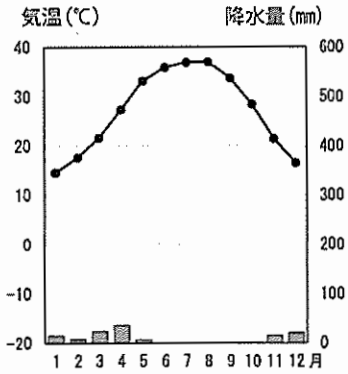

年平均気温　27.0℃
年降水量　127.3mm

オ

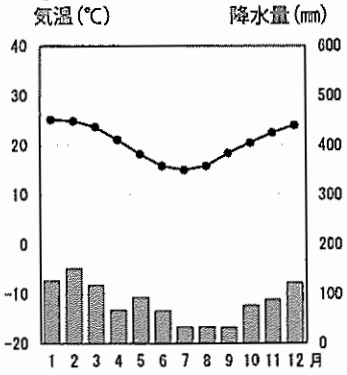

年平均気温　20.4℃
年降水量　1011.6mm

（気象庁ホームページ「世界の地点別平年値」から作成）

	ア	イ	ウ	エ	オ
①	b	d	a	c	e
②	b	e	a	c	d
③	c	d	e	b	a
④	c	e	a	b	d
⑤	b	e	c	d	a

問５　次の《資料》は，日本とＥＵ，ＡＳＥＡＮ，アジアＮＩＥＳ，中国，アメリカ合衆国との貿易総額の推移を示している。Ａ～Ｅに当てはまる国や地域の正しい組合せを選びなさい。

《資料》日本とＥＵ，ＡＳＥＡＮ，アジアＮＩＥＳ，中国，アメリカ合衆国との貿易総額の推移

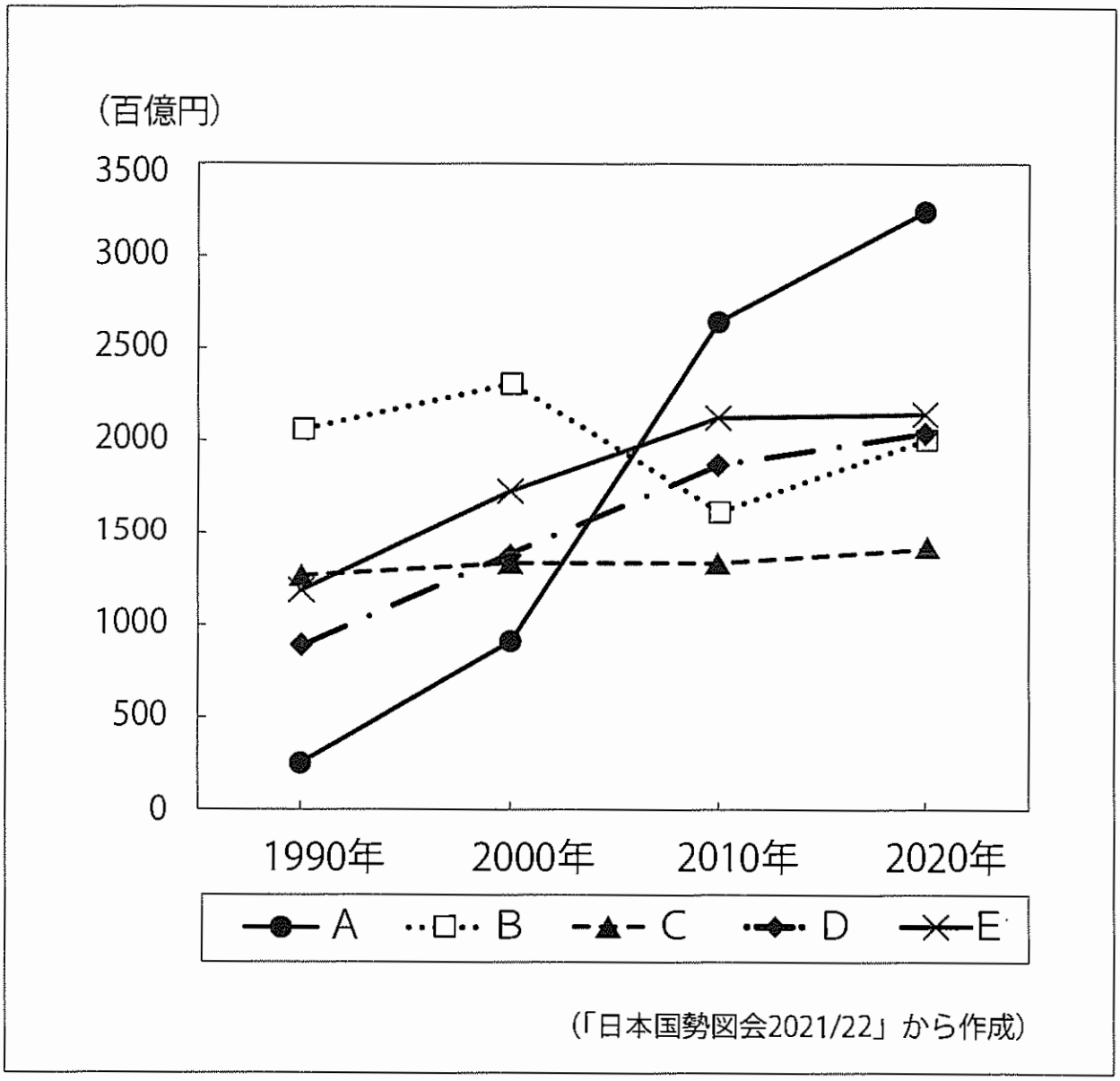

（「日本国勢図会2021/22」から作成）

	A	B	C	D	E
①	ＡＳＥＡＮ	アメリカ	アジアＮＩＥＳ	中　国	Ｅ　Ｕ
②	ＡＳＥＡＮ	Ｅ　Ｕ	アジアＮＩＥＳ	中　国	アメリカ
③	中　国	Ｅ　Ｕ	アメリカ	ＡＳＥＡＮ	アジアＮＩＥＳ
④	中　国	アメリカ	Ｅ　Ｕ	アジアＮＩＥＳ	ＡＳＥＡＮ
⑤	中　国	アメリカ	Ｅ　Ｕ	ＡＳＥＡＮ	アジアＮＩＥＳ

問６　次の《資料》は，ヨーロッパ，アフリカ，アジア，オセアニア，北アメリカ，ラテンアメリカの地域の人口の変化を示している。Ａ～Ｅに当てはまる地域の正しい組合せを選びなさい。

《資料》ヨーロッパ，アフリカ，アジア，オセアニア，北アメリカ，ラテンアメリカの人口の変化

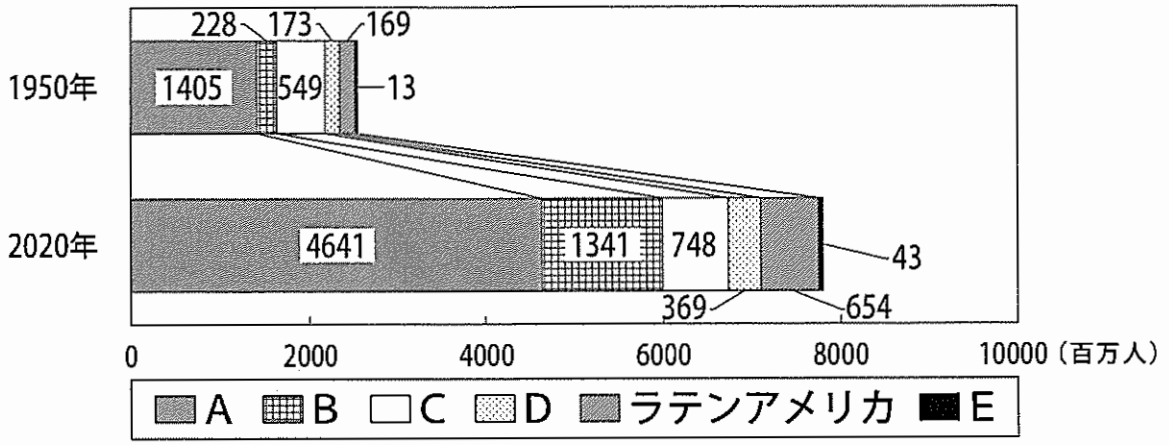

（「世界国勢図会 2021/22」から作成）

※　北アメリカ・・・・・・北部アメリカ
※　ラテンアメリカ・・・・カリブ海諸国，中央アメリカ及び南アメリカ

	A	B	C	D	E
①	アジア	アフリカ	北アメリカ	オセアニア	ヨーロッパ
②	アフリカ	アジア	北アメリカ	ヨーロッパ	オセアニア
③	アジア	アフリカ	ヨーロッパ	北アメリカ	オセアニア
④	アフリカ	アジア	オセアニア	北アメリカ	ヨーロッパ
⑤	アジア	アフリカ	オセアニア	北アメリカ	ヨーロッパ

※次の略地図を見て，問７に答えなさい。

問７　次の《資料Ⅰ》,《資料Ⅱ》は，それぞれ略地図中ア～オの各道県の農業産出額の内訳と各道県の食料自給率カロリーベースを示している。Ａ～Ｅに当てはまる各道県の正しい組合せを選びなさい。ただし，同じ記号には同じ道県が入る。

《資料Ⅰ》各道県別農業産出額の内訳（2020年）

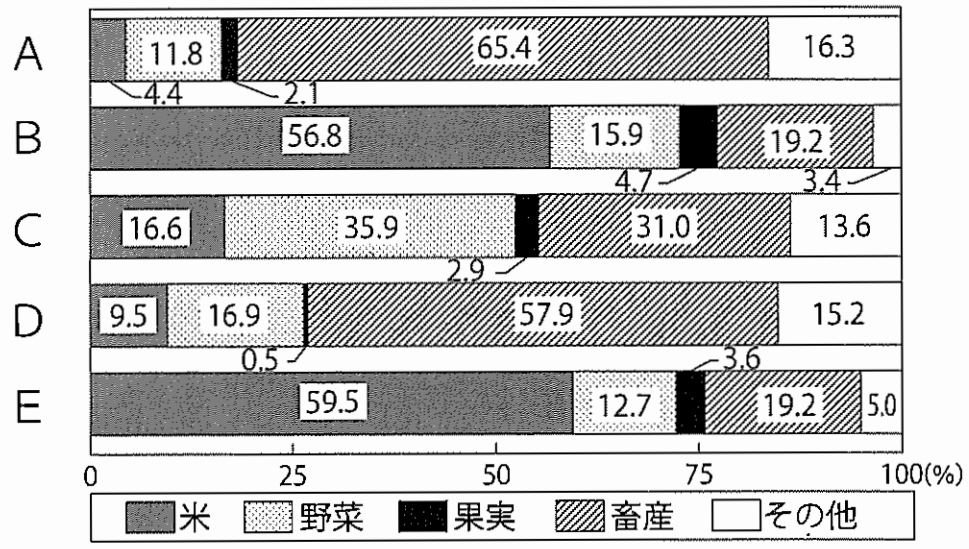

（「データでみる県勢2023」から作成）

《資料Ⅱ》各道県別食料自給率　カロリーベース（2020年度概算値）

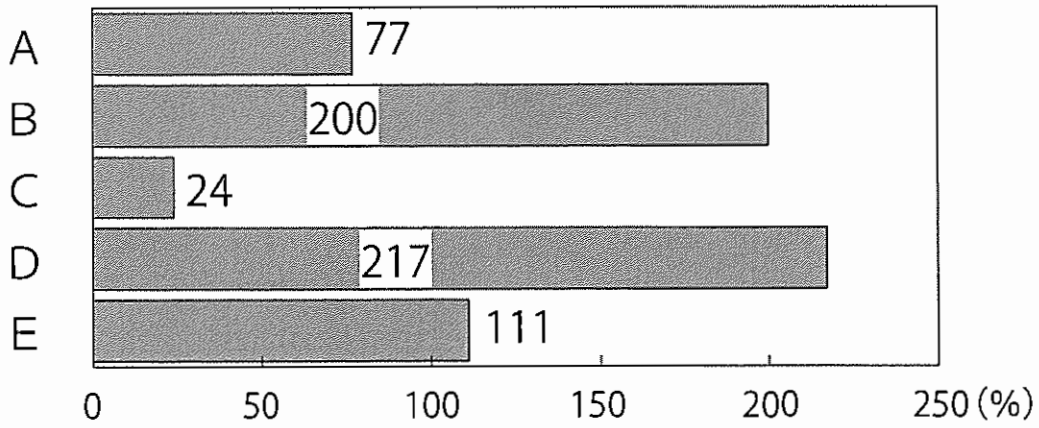

（農林水産省ホームページ「都道府県別食料自給率について」から作成）

	A	B	C	D	E
①	オ	イ	エ	ア	ウ
②	オ	ウ	エ	ア	イ
③	ア	イ	エ	オ	ウ
④	ア	ウ	オ	エ	イ
⑤	オ	ウ	ア	エ	イ

※次の略地図を見て，問８に答えなさい。

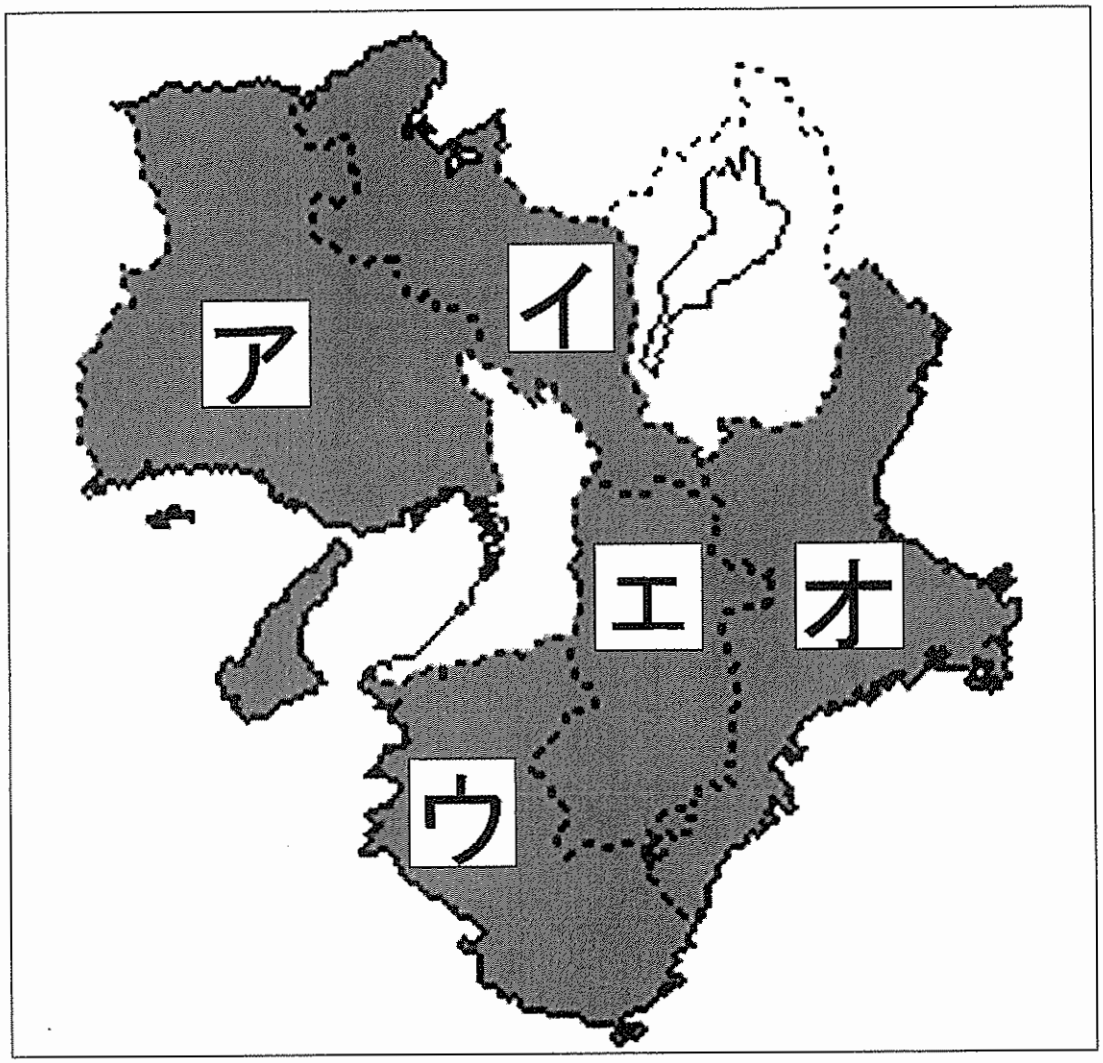

問８　次の《資料Ⅰ》,《資料Ⅱ》は，それぞれ略地図中ア～オの各府県（主目的地）の宿泊旅行の旅行目的別延べ旅行者数と国宝指定件数を示している。Ａ～Ｅに当てはまる各府県の正しい組合せを選びなさい。ただし，同じ記号には同じ府県が入る。

《資料Ⅰ》各府県（主目的地）の宿泊旅行の旅行目的別延べ旅行者数（2019年）

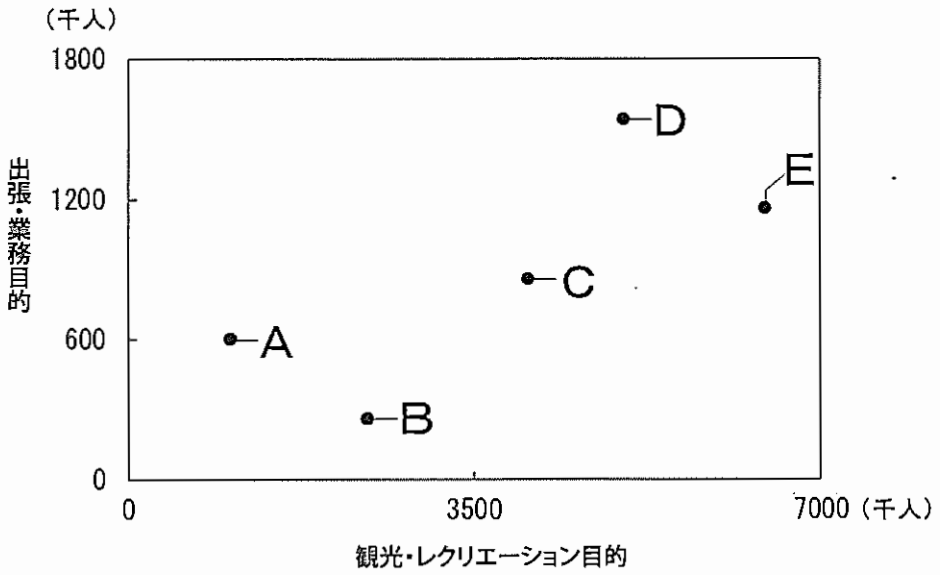

（「データでみる県勢2021」から作成）

《資料Ⅱ》各府県の国宝指定件数（2023年５月１日現在）

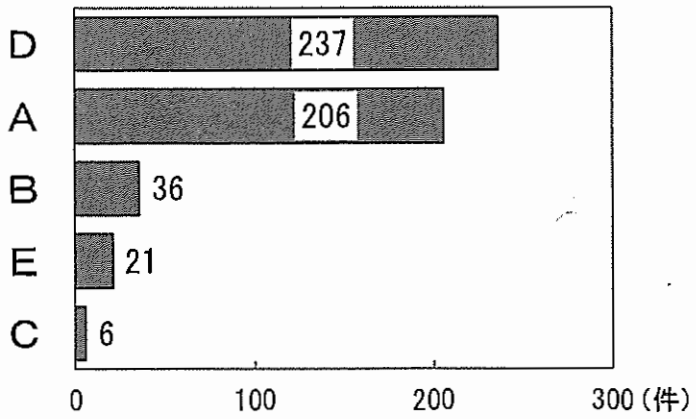

（文化庁ホームページ「文化財指定等の件数」から作成）

	A	B	C	D	E
①	イ	ウ	ア	エ	オ
②	エ	ウ	オ	イ	ア
③	エ	ア	オ	イ	ウ
④	イ	オ	ア	エ	ウ
⑤	エ	オ	ウ	イ	ア

問９　次の《表》は，世界の小麦，大豆，米，自動車の総生産量（2018年）に占める上位５か国の生産量の割合を示している。Ａ～Ｄに当てはまる品目の正しい組合せを選びなさい。

《表》

項目／順位	A		B		C		D	
	国名	割合	国名	割合	国名	割合	国名	割合
１位	アメリカ	35.5%	中国	17.9%	中国	27.1%	中国	28.7%
２位	ブラジル	33.8%	インド	13.6%	インド	22.1%	アメリカ	11.7%
３位	ｱﾙｾﾞﾝﾁﾝ	10.8%	ロシア	9.8%	ｲﾝﾄﾞﾈｼｱ	10.6%	日本	10.0%
４位	中国	4.1%	アメリカ	7.0%	ﾊﾞﾝｸﾞﾗﾃﾞｼｭ	7.2%	インド	5.3%
５位	インド	4.0%	フランス	4.9%	ベトナム	5.6%	ドイツ	5.3%

（「世界国勢図会2020/21」から作成）

	A	B	C	D
①	大　豆	米	小　麦	自動車
②	大　豆	小　麦	米	自動車
③	小　麦	大　豆	自動車	米
④	大　豆	小　麦	自動車	米
⑤	小　麦	大　豆	米	自動車

問10　次の≪表≫は，欧米における革命についてまとめたものである。（　ア　）～（　オ　）に当てはまる最も適切な語句の組合せを選びなさい。ただし，同じ記号には同じ語句が入る。

≪表≫

国	出来事	法典等	法典等の部分要約
イギリス	（　ア　）革命始まる（1688年）	権利章典（1689年）	第１条　（　イ　）の同意なしに，国王の権限によって法律とその効力を停止することは違法である。 第４条　国王大権と称して，（　イ　）の承認なく，国王の統治のために税金を課すことは，違法である。
アメリカ	独立戦争勃発（1775年）	アメリカ独立宣言（1776年）	我々は以下のことを自明の真理であると信じる。人間はみな平等に創られ，ゆずりわたすことのできない権利を（　ウ　）によってあたえられていること，その中には，生命・自由・幸福の追求がふくまれていること，である。
フランス	フランス革命始まる（1789年）	（　エ　）宣言（1789年）	第１条　人は生まれながらに，自由で平等な権利を持つ。社会的な区別は，ただ公共の利益に関係のある場合にしか設けられてはならない。 第３条　主権の源は，もともと（　オ　）の中にある。どのような団体や個人であっても，（　オ　）から出たものでない権力を使うことはできない。 第11条　思想および言論の自由な発表は，人間の最も尊い権利の一つである。したがって，全ての市民は自由に話し，書き，印刷し，出版することができる。

	ア	イ	ウ	エ	オ
①	名　誉	議　会	大統領	人　権	国　民
②	名　誉	議　会	神	人　権	国　民
③	ピューリタン	国　会	神	共　和	国　民
④	ピューリタン	議　会	神	共　和	臣　民
⑤	ピューリタン	国　会	大統領	人　権	臣　民

問11　次の≪会話文≫は，≪写真≫ａ～ｅを見て生徒が奈良時代から平安時代の文化の特色について会話をしているものである。≪会話文≫の下線部ａ～ｅのうち，正しいものを○，誤っているものを×としたとき，正しい組合せを選びなさい。なお≪写真≫ａ～ｅと≪会話文≫の下線部ａ～ｅは対応しているものとする。

≪写真≫

ａ　平安時代の文化（源氏物語絵巻）

ｂ　平等院鳳凰堂



ｃ　かな文字への変化

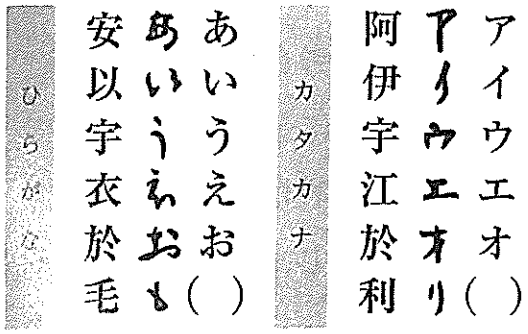

ｄ　万葉集



ｅ　正倉院宝物



≪会話文≫

まゆみ　奈良時代の天平文化と比べると，平安時代の文化は，大陸の状況が不安定で外国の文化の影響が弱まったことから，a日本の風土やくらしに合った，優美で洗練されたものになったみたいね。

ゆうた　そのころに藤原頼通によってつくられた平等院鳳凰堂は，b秘密の教えという意味がある密教によって，大日如来に帰依し，秘密の教義と儀礼を伝承によって伝えていくことを目的としていたね。

まゆみ　また，そのころには，日本の言葉や日本人の気持ちを表すのに適したかな文字が普及し，cひらがなは主に女性のあいだで使われ紫式部の「源氏物語」や清少納言の「枕草子」などの優れた作品が生み出されたね。

ゆうた　一方，奈良時代の天平文化では，すべて漢字で書かれた歌集が編纂され，dさまざまな身分の人がつくった和歌が約9000首ほど集められたね。

まゆみ　そうだね。シルクロードや海の道を通じて，e西アジアや南アジアの影響を受けた国際色豊かで華やかな宝物が正倉院に納められたことも有名だね。

	a	b	c	d	e
①	○	×	○	×	○
②	×	×	○	○	×
③	○	×	×	○	×
④	×	○	○	×	○
⑤	○	○	×	×	×

問12　次の≪資料≫は，日本の16～19世紀の主要事項を左から順に示している。≪資料≫の（　ア　）～（　オ　）には，≪世界で起こった主な出来事≫のａ～ｅのいずれかが入る。（　ア　）～（　オ　）に当てはまる正しい組合せを選びなさい。

≪資料≫

時代	（安土・桃山）							（江戸）							
主要事項	室町幕府滅亡	豊臣秀吉、全国統一	（ア）	江戸幕府成立	三十年戦争	鎖国	（イ）	ロシア、ピョートル一世即位	正徳の政治	享保の改革	清、乾隆帝即位	田沼時代	寛政の改革	（ウ）	（エ）	異国船打払令	（オ）	天保の改革	ペリー来航	日米修好通商条約

（山川出版社『詳説　日本史』をもとに作成）

≪世界で起こった主な出来事≫

a　ルイ14世フランス国王即位
b　ラクスマン，根室に来航
c　アヘン戦争
d　ナポレオン，フランス皇帝即位
e　文禄・慶長の役

	ア	イ	ウ	エ	オ
①	e	b	a	d	c
②	a	b	c	e	d
③	a	e	c	b	d
④	e	a	b	d	c
⑤	d	a	b	e	c

問13　次のア～オの各文は，≪資料≫中のア～オについてそれぞれ述べたものである。文の下線部ａ～ｅのうち，正しいものを○，誤っているものを×としたとき，正しい組合せを選びなさい。

ア　この頃，a日本列島改造論を掲げて，内閣を組織した。
イ　この頃，日本はb西ドイツを抜いて，資本主義諸国ではアメリカ合衆国に次ぐ世界第２位の国民総生産を実現した。
ウ　この頃，c第一次石油危機が起こる。
エ　この頃，政府・日本銀行はd金融緩和への転換，土地投機の抑制をはからざるをえなくなり，公定歩合が引き上げられ，不動産融資は抑制され，バブル崩壊に至った。
オ　この頃，アメリカ合衆国の大手融資銀行がeサブプライムローン証券による巨額の負債で経営破綻し，アメリカ合衆国・ヨーロッパで銀行の破綻が相次いだリーマン＝ショックが起こった。

≪資料≫日本の経済成長率（ＧＤＰ実質）の推移

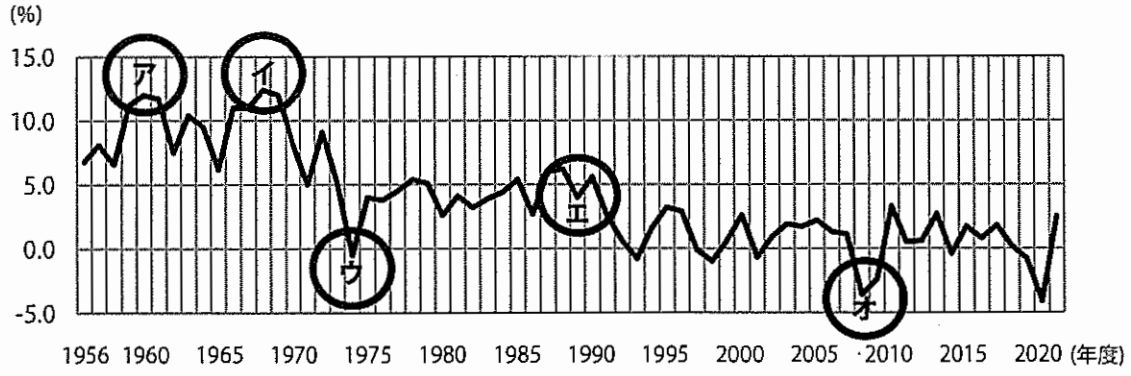

（内閣府　長期経済統計国民経済計算から作成）

	a	b	c	d	e
①	×	×	×	○	○
②	×	×	○	○	×
③	○	○	×	○	×
④	×	○	○	×	○
⑤	○	○	○	×	○

問14　次のア～オの各文は，フランス，アメリカ合衆国，ドイツ，日本，ソ連の５か国普通選挙への歩みを説明したものである。ア～オに示す内容について，正しいものを○，誤っているものを×としたとき，正しい組合せを選びなさい。

ア　フランスやアメリカやドイツの男性普通選挙は，日本の男性普通選挙よりも50年以上も早い。
イ　ドイツは，フランスとアメリカに次いで男性普通選挙を実現し，男女普通選挙が1919年と５か国の中で最も早い。
ウ　フランスの男女普通選挙が1945年となったのは，ヴァイマル憲法における女性の法的地位の低さと家族法制が大きく関わっている。
エ　日本は，1925年に男性普通選挙が実施された。
オ　ソ連は，男性普通選挙が行われないまま，男女普通選挙を日本やフランスよりも早く取り入れている。

	ア	イ	ウ	エ	オ
①	×	×	○	○	○
②	×	×	×	○	×
③	○	○	×	○	○
④	×	○	○	×	○
⑤	○	○	×	×	×

問15　次の文は情報化社会について，述べたものである。文の下線部ア～エのうち，正しいものを○，誤っているものを×としたとき，正しい組合せを選びなさい。

私たちはパソコンやスマートフォンによってさまざまな情報や知識を得ることができ，友だちや家族と連絡をとり合い，ゲームを楽しんだり買い物をしたりすることができる。情報通信技術によって社会の中で情報が大きなはたらきをもつようになることを$_{ア}$グローバル化という。このような進展は，防災や減災にも役立ち，例えば地震が発生したときに瞬時に情報を伝えてくれる。

図書・音声・映像などで得るのとはけた違いに多い情報が，デジタル情報として蓄積されているものをビッグデータという。それらを処理して活用するものの代表としてＡＩがある。ＡＩは$_{イ}$人工知能という意味である。ＡＩがさまざまな判断を行い，私たちの生活をより豊かにすることが期待されている。

ＳＮＳが広く利用されるようになって，他人に知られたくない個人の情報が多くの人に知られたり，私たちの行動が細かいところまでビッグデータとして記録されて監視されたりする危険性が指摘されている。私たちは，情報を正しく判断して利用・活用する力である$_{ウ}$情報モラルを身に付ける必要がある。さらに，近年は「デジタル技術の利用を通じて，社会に積極的に関与し，参加する能力」という意味をもつ，$_{エ}$デジタル・シティズンシップも求められている。

	ア	イ	ウ	エ
①	×	○	×	○
②	×	○	×	×
③	○	○	○	×
④	×	×	○	×
⑤	○	×	○	○

問16　次の文は，昼休みに学級で行うスポーツの種目について生徒同士が対立した場合に，教師が生徒に説明した内容である。（　ア　）～（　エ　）に当てはまる最も適切な語句の組合せを選びなさい。ただし，同じ記号には同じ語句が入る。

> 社会的存在である私たちは異なる個性や多様な考え方・価値観をもっていて，利害の違いがあることから，今日の話合いのようにサッカーにするか，バレーボールにするか，それともドッジボールをするかなど，考えや意見が対立してしまうことがあります。そのような場合に，お互いが強く主張ばかりしても意見はまとまりません。対立する双方が（　ア　）を得られることを（　イ　）といい納得できる解決策を話し合い，意見の一致をみる努力をしなければなりません。
>
> また対立から（　ウ　）への努力がなされるときに，効率と（　エ　）という見方や考え方があります。効率は無駄を省くという考え方です。（　エ　）はその際に手続きの不正や不利益を被る人はいないか，みんな同じ条件になっているかを考えることです。

	ア	イ	ウ	エ
①	利　益	公　平	合　意	包　摂
②	同　意	公　平	共　生	公　正
③	利　益	Win-Winの関係	共　生	包　摂
④	同　意	Win-Winの関係	共　生	公　正
⑤	利　益	Win-Winの関係	合　意	公　正

問17　次の文は「人権」の学習内容について，説明したものである。文の下線部ア～オのうち，正しいものを○，誤っているものを×としたとき，正しい組合せを選びなさい。

私たちが自由で人間らしい豊かな生活を送れるように，日本国憲法は，平等権，ア生活権，参政権などのイ基本的人権を保障している。こうした人権の保障は，一人一人をかけがえのない個人としてあつかうという「個人の尊重」の考え方（憲法第13条）に基づいている。

第13条には，次のように示してある。

> すべて国民は，個人として尊重される。生命，自由及び幸福追求に対する国民の権利については，公共の福祉に反しない限り，ウ司法その他の国政の上で，最大の尊重を必要とする。

個人の尊重の考え方は「エ法の下の平等」（憲法第14条第１項）と深く関係している。これはある人を特別に有利にあつかったり，不利にあつかったりすれば，個人の尊重が損なわれるからである。一人一人をかけがえのない個人として尊重するためには，全ての人々を平等にあつかうことが必要である。

第14条第１項には，次のように示してある。

> すべて国民は，法の下に平等であつて，人種，オ宗教，性別，社会的身分又は門地により，政治的，経済的又は社会的関係において，差別されない。

人権は，日本はもちろん，世界中の全ての人々に保障されるべきものである。どのような人間でも，生まれた人種や性別，身分などによって差別されたり，異なる意見をもっているからといって逮捕されたりするようなことがあってはならない。

	ア	イ	ウ	エ	オ
①	×	○	○	×	×
②	×	○	×	○	×
③	○	×	×	○	○
④	×	×	○	○	○
⑤	○	×	○	×	×

問18　次の文は，日本の中央銀行の働きと為替レートの仕組みについて，述べたものである。文の下線部ア～オのうち，正しいものを○，誤っているものを×としたとき，正しい組合せを選びなさい。

> 日本の中央銀行は，日本銀行であり，普通の金融機関とは異なる役割を果たしている。
>
> 日本銀行は，紙幣（日本銀行券）を発行できる唯一の$_{ア}$発券銀行である。また，政府のお金を出し入れする$_{イ}$国会の銀行でもある。さらに，$_{ウ}$銀行の銀行として金融機関から余ったお金を預かったり，お金が不足する金融機関に貸し出したりする。
>
> 為替レートは異なる通貨を交換する際の比率にあたる。
>
> 円高が進むと，主に商品を海外に輸出する企業にとっては同じ商品でも外貨での価格が上昇し，競争上$_{エ}$有利になる。日本の消費者にとっては，海外の商品が$_{オ}$安くなる。円安が進むと，その逆の現象が起こる。

	ア	イ	ウ	エ	オ
①	×	○	○	×	×
②	×	×	×	○	○
③	○	×	○	×	○
④	×	○	×	○	○
⑤	○	×	○	○	×

※以下の問題は記述問題とする。
次の 問19 ～ 問23 の解答は，全て「解答用紙（記述用）」に記入しなさい。

問19　東京都とその周辺の県では，地震や台風などの際，帰宅困難者が多くでることがある。その理由の一つを《資料Ⅰ》，《資料Ⅱ》を関連付けて答えなさい。

《資料Ⅰ》東京都とその周辺の県の昼夜間人口比率（2020年）

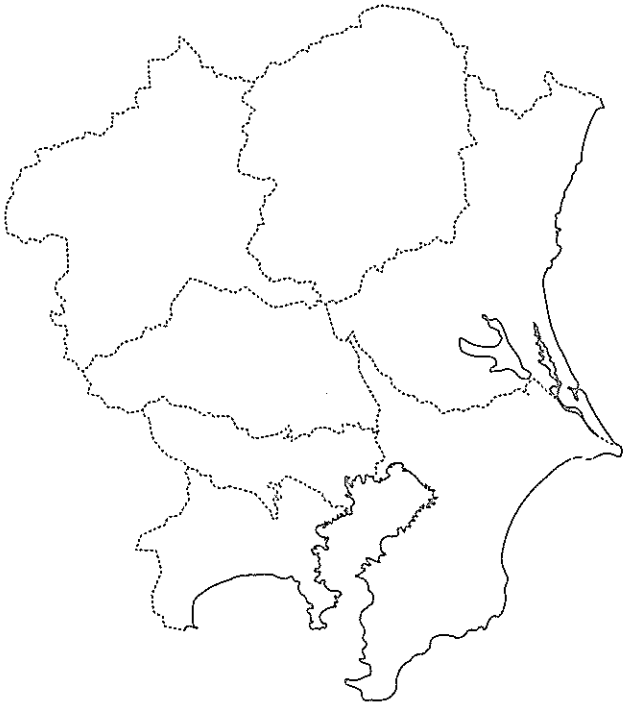

項目 / 都県	昼夜間人口比率
茨城県	97.6
栃木県	99.0
群馬県	100.0
埼玉県	87.6
千葉県	88.3
東京都	119.2
神奈川県	89.9

昼夜間人口比率
昼間人口÷夜間人口×１００

（「データでみる県勢2023」から作成）

《資料Ⅱ》県外に通勤・通学する人が利用する交通手段（令和２年）

利用交通手段 / 県	自家用車のみ	オートバイのみ	自転車のみ
埼玉県	10.9%	0.7%	1.3%
千葉県	8.7%	0.4%	0.4%
神奈川県	5.7%	0.6%	0.8%

（「令和２年国勢調査/従業地・通学地による人口・就学状態等集計」から作成）

問20　次の文は，ヨーロッパ世界の変容について述べたものである。（　a　）～（　d　）に当てはまる語句を答えなさい。ただし，同じ記号には同じ語句が入る。

カルパティア山脈の北方を原住地とする（　a　）人は，6世紀になると，大移動前にゲルマン人が住んでいたビザンツ帝国北方の広大な地域に急速に広がった。東（　a　）人・南（　a　）人はビザンツ文化とギリシア正教，西（　a　）人は西欧文化とローマ＝カトリックの影響を受けつつ，自立と建国の道を歩んでいった。

東（　a　）人（ロシア人・ウクライナ人など）が住むロシアでは，スウェーデン系ノルマン人がキエフ公国を建国したが，13世紀にバトゥの率いるモンゴル軍が侵入し，キプチャク＝ハン国を建てると約240年間モンゴルの支配に服した。

15世紀になると商業都市（　b　）を中心とした（　b　）大公国が急速に勢力を伸ばし，大公イヴァン3世の時代に東北ロシアを統一して，1480年にはモンゴルの支配から脱した。彼は諸侯の力を抑えて強大な権力を握り，ビザンツ帝国最後の皇帝の姪と結婚してローマ帝国の後継者を自任し，はじめてツァーリ（皇帝）の称号を用いた。

南（　a　）人の最大勢力であったセルビア人は，はじめビザンツ帝国に服属してギリシア正教に改宗したが，12世紀に独立し，14世紀前半には（　c　）半島北部を支配した。クロアティア人などは，西方のフランク王国の影響下でローマ＝カトリックを受け入れた。しかし，14世紀末以降にオスマン帝国の支配下におかれるようになった。

西（　a　）人（ポーランド人・チェック人など）は，西ヨーロッパの影響を受けてローマ＝カトリックに改宗した。ポーランド人は10世紀頃に建国し，14世紀前半にはカジミェシュ（カシミール）大王のもとで繁栄した。その後ポーランドと同君連合を結びヤゲウォ（ヤゲロー）朝（　d　）＝ポーランド王国をつくり，16世紀に最も強大となった。チェック人は，10世紀にベーメン（ボヘミア）王国を統一したが，11世紀には神聖ローマ帝国に編入された。

問21　中学校学習指導要領解説社会編（平成29年文部科学省）「第２章　社会科の目標及び内容」「第２節　各分野の目標及び内容」「１　地理的分野の目標，内容及び内容の取扱い」「（２）内容」「Ｃ　日本の様々な地域」には，「（４）地域の在り方」として，調査結果をまとめたり発表したりするに当たって基本的な記述の構成や仕方が示されている。

次の下線部ａ～ｅのうち，誤っているものを二つ選び記号で答え，それぞれの正しい語句を答えなさい。

１）調査の$_{a}$<u>動機</u>：なぜ，この主題を選んだのか，どんなことに興味や関心，疑問をもったのかを記述
２）調査の$_{b}$<u>目的</u>：この調査で何を知りたいのか，分かりたいのかを記述
３）調査の$_{c}$<u>方法</u>：いつ，どこで，どんな$_{c}$<u>方法</u>で何を調べていくのかを記述
４）調査の内容と結果の$_{d}$<u>表現</u>：調べて分かったことを調査前の予想と比べたり自分の解釈を加えたりして論述するとともに，地図や図表，写真などを入れて具体的に記述
５）感想や今後の$_{e}$<u>抱負</u>：調べて分かったことに対して，どんなことを感じたかを記述するとともに，もっと深めてみたい内容を記述
６）参考資料など：調査に用いたり，参考にしたりした書籍名などを記述

問22　次の≪資料≫，≪表①≫，≪表②≫は，国際連合の総会で世界が合意した目標と日本政府が定めた８つの優先課題についてまとめたものである。（　ア　）～（　オ　）に当てはまる語句を答えなさい。

≪資料≫

国際連合の総会では，世界が直面している様々な課題を解決するために，2015年に「（　ア　）（ＳＤＧｓ）」に合意した。ＳＤＧｓは「だれひとり取り残さない社会」を標語に，具体的な17の目標の達成に向けて，先進国も発展途上国も含めて世界中の国々が努力することが約束され，ＳＤＧｓの達成のために取り組んでいる。

日本の達成度は，2018年の調査では156か国中15位であった。しかし，「目標12：つくる責任つかう責任」の達成度は下から５番目であるなど，不十分な点も存在している。

≪表①≫日本の達成度の低い目標

目標	達成度の低い主な原因
	・女性の国会議員の割合 ・男女の賃金格差
	・電気電子機器の廃棄物の量 ・食料の輸入に伴う活性窒素の排出量
	・エネルギー生産に伴う二酸化炭素排出量 ・自動車以外での，炭素に対する課税の低さ
	・排他的経済水域での漁業資源の過剰利用
	・ＧＮＩに占める（　イ　）などでの無償資金提供の割合 ・金融に関する情報の秘匿

≪表②≫日本政府の定めた８つの優先課題

①あらゆる人々の活躍の推進

②健康・長寿の達成

③成長市場の創出，地域活性化，科学技術イノベーション

④持続可能で強靭な国土と質の高いインフラの整備

⑤省エネルギー・（　ウ　）エネルギー，気候変動対策，（　エ　）型社会

⑥（　オ　）性，森林，海洋等の環境の保全

⑦平和と安全・安心社会の実現

⑧ＳＤＧｓ実施推進の体制と手段

（日本文教出版「中学社会公民的分野」から作成）

問23　次の文は，貧困や格差の問題について述べたものである。この貧困や格差の問題を本質的に解決するためにフェアトレードとマイクロクレジットが注目されている。（1）～（3）の各問いに答えなさい。

> 貧困とは，１日の生活に使える金額が，1.9ドル未満の状態をいう。特に深刻なのが≪地図≫に示す地域である。貧困問題を解決するために食料や社会資本などの援助が行われてきた。今後は食料や社会資本の整備などの援助以外の取組としてフェアトレードやマイクロクレジットが注目されている。

≪地図≫　ＦＡＯ　ＨＵＮＧＥＲ　ＭＡＰ

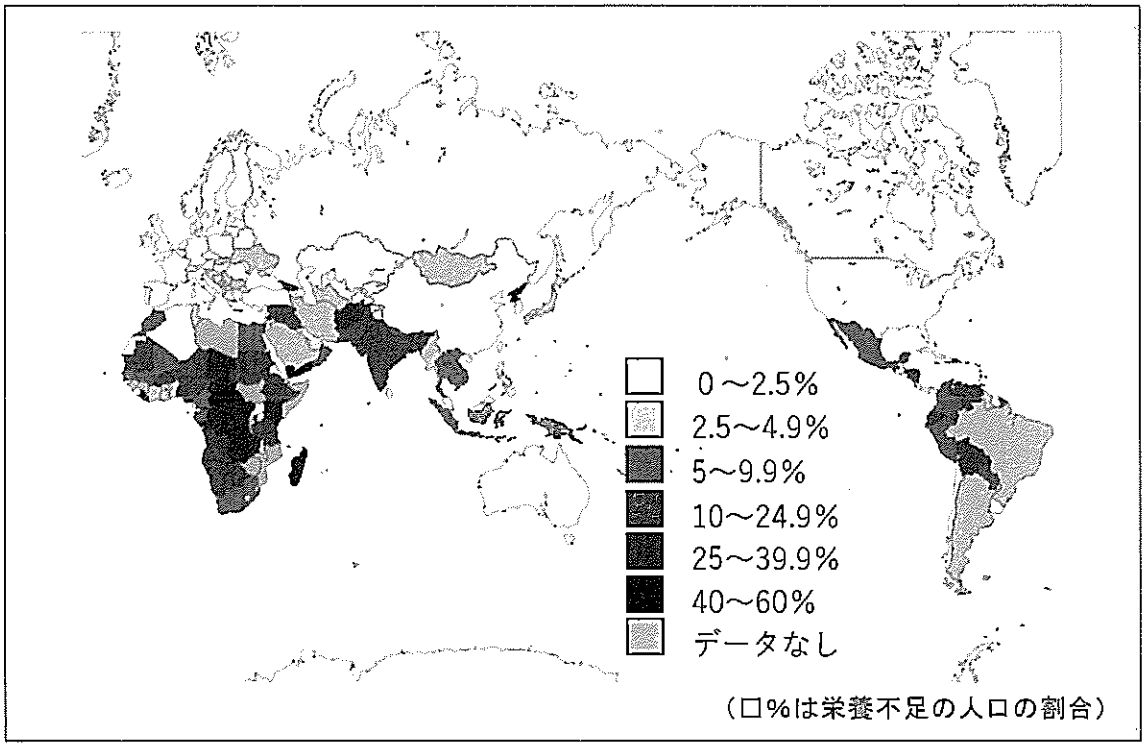

（ハンガーマップ　国連食糧農業機関（ＦＡＯ）の統計から作成）

（1）≪地図≫中に示す，栄養不足の人口の割合が多い国と少ない国との間にある貧困や格差の問題を漢字２文字で答えなさい。

（2）フェアトレードとマイクロクレジットの意味をそれぞれ答えなさい。

（3）フェアトレードとマイクロクレジットが注目されている理由を答えなさい。

解答用紙（記述用）

社　会	2の1

（令和６年度）

受験番号	氏　　名
第　　番	

問19

問20

a	
b	
c	
d	

問21

記号	語句

解答用紙（記述用）

社　会	2の2

（令和６年度）

受験番号	氏　　名
第　　番	

問22

ア			
イ		ウ	
エ		オ	

問23

（1）			問題
（2）	フェアトレード		
	マイクロクレジット		
（3）			

令和６年度福岡県公立学校教員採用候補者選考試験　解答及び配点

教科・科目：中学校社会科

	解　答	配　点		解　答	配　点
問１	③	5	問 32		
問２	④	5	問 33		
問３	①	5	問 34		
問４	④	5	問 35		
問５	⑤	5	問 36		
問６	③	5	問 37		
問７	①	5	問 38		
問８	②	5	問 39		
問９	②	5	問 40		
問 10	②	5	問 41		
問 11	①	5	問 42		
問 12	④	5	問 43		
問 13	④	5	問 44		
問 14	③	5	問 45		
問 15	①	5	問 46		
問 16	⑤	5	問 47		
問 17	②	5	問 48		
問 18	③	5	問 49		
問 19	記述	１５	問 50		
問 20	記述	１０	問 51		
問 21	記述	１０	問 52		
問 22	記述	１０	問 53		
問 23	記述	１５	問 54		
問 24			問 55		
問 25			問 56		
問 26			問 57		
問 27			問 58		
問 28			問 59		
問 29			問 60		
問 30			問 62		
問 31			問 63		

解答用紙（記述用）

社　会	2の1

（令和６年度）

受験番号	氏　　名
第　番	

問 19　15 点

東京都周辺の県から東京都へ、公共交通機関を使って通勤・通
学する人の割合が多いから。

問 20　10 点（a, b は各３点、c, d は各２点）

a	スラヴ
b	モスクワ
c	バルカン
d	リトアニア

問 21　10 点　　（記号と語句両解で５点）

記号	語句
d	考察
e	課題

解答用紙（記述用）

社　会	２の２

（令和６年度）

受験番号	氏　　名
第　番	

問 22　10 点　（各２点）

ア	持続可能な開発目標		
イ	ＯＤＡ	ウ	再生可能
エ	循環	オ	生物多様

問 23　15 点　（（１）２点（２）４点・４点（３）５点）

（１）	南	南	問題（「南北」も可）
（２）	フェアトレード 発展途上国や新興国の商品を適正（公正）な値段で購入すること。		
	マイクロクレジット 少額の融資を受けやすくすることで事業収入を得られるようにすること。		
（３）	貧しい国々の人々の経済的な（生活の）自立を		
	うながすことができるから。		