令和７年度

福岡県公立学校教員

採用候補者選考試験問題

中　学　校　社　会

1　中学校社会の問題は下記のとおりです。
　　択一問題　問 1 ～問20
　　記述問題　問21 ～問24

2　択一問題は，全て「ＯＣＲ解答用紙」に記入してください。

3　記述問題は，全て「解答用紙（記述用）」に記入してください。

問１ ～ 問20 の解答は，全て [　　] の①～⑤から一つ選び，その番号を「ＯＣＲ解答用紙」にマークしなさい。

問１　次の文は，中学校学習指導要領解説社会編（平成29年文部科学省）「第２章　社会科の目標及び内容」「第１節　教科の目標」の一部を抜粋したものである。文中の（　ア　）～（　オ　）に当てはまる語句の正しい組合せを選びなさい。

社会的な見方・考え方については，第１章の２において示したとおり，社会科，地理歴史科，公民科の特質に応じた見方・考え方の総称であり，社会的事象等の意味や意義，特色や相互の関連を考察したり，社会に見られる課題を把握して，その解決に向けて構想したりする際の「視点や方法（考え方）」であると考えられる。そして，社会的な見方・考え方を働かせるとは，そうした「視点や方法（考え方）」を用いて課題を（　ア　）解決したりする学び方を表すとともに，これを用いることにより児童生徒の「社会的な見方・考え方」が（　イ　）ことを併せて表現している。

こうした「社会的な見方・考え方を働かせ」ることは，社会科，地理歴史科，公民科としての（　ウ　）学びを促し，深い学びを実現するための思考力，判断力の育成はもとより，（　エ　）知識の習得に不可欠であること，（　オ　）学習に取り組む態度にも作用することなどを踏まえると，資質・能力全体に関わるものであると考えられるため，柱書に位置付けられている。

また，中学校社会科における「社会的な見方・考え方」は，地理的分野における「社会的事象の地理的な見方・考え方」，歴史的分野における「社会的事象の歴史的な見方・考え方」，その上に立つ公民的分野における「現代社会の見方・考え方」を総称しての呼称であり，第１章の２において示したとおりである。

	ア	イ	ウ	エ	オ
①	調査したり	身に付いていく	本質的な	生きて働く	自主的に
②	追究したり	身に付いていく	効果的な	正確な	主体的に
③	追究したり	鍛えられていく	本質的な	生きて働く	主体的に
④	調査したり	鍛えられていく	効果的な	正確な	自主的に
⑤	調査したり	身に付いていく	本質的な	正確な	主体的に

問２　次の文は，中学校学習指導要領解説社会編（平成29年文部科学省）「第２章　社会科の目標及び内容」「第２節　各分野の目標及び内容」「２　歴史的分野の目標，内容及び内容の取扱い」「⑴　目標」の一部を抜粋したものである。文中の（　ア　）～（　エ　）に当てはまる語句の正しい組合せを選びなさい。ただし，同じ記号には同じ語句が入る。

> 思考・判断したことを説明したり，それらを基に（　ア　）したりする力については，歴史的分野における表現力に関わるものである。歴史的分野における「表現力」とは，主旨が明確になるように内容構成を考え，歴史に関わる事象についての意味や意義について，自分の考えを（　イ　）に説明する力，他者の主張を踏まえたり取り入れたりして，歴史に関わる事象についての自分の考えを（　ウ　）しながら（　ア　）する力のことであると考えられる。こうした表現力を養うためには，学習内容や活動に応じた（　エ　）の場面を設定し，生徒の表現を促すようにすることなどが重要である。

	ア	イ	ウ	エ
①	論述	論理的	強化	振り返り
②	議論	論理的	再構成	振り返り
③	議論	的確	再構成	話し合い
④	論述	的確	再構成	話し合い
⑤	議論	的確	強化	振り返り

問３　次の文は，中学校学習指導要領解説社会編（平成29年文部科学省）「第３章　指導計画の作成と内容の取扱い」「１　指導計画の作成上の配慮事項」の一部を抜粋したものである。文中の（　ア　）～（　オ　）に当てはまる語句や数の正しい組合せを選びなさい。ただし，同じ記号には同じ語句や数が入る。

> ⑶　各分野の履修については，第１，第２学年を通じて地理的分野及び歴史的分野を（　ア　）学習させることを原則とし，第３学年において歴史的分野及び公民的分野を学習させること。各分野に配当する授業時数は，地理的分野（　イ　）単位時間，歴史的分野（　ウ　）単位時間，公民的分野100単位時間とすること。これらの点に留意し，各学校で創意工夫して適切な指導計画を作成すること。

ここで示されている配慮事項の前段において，「第１，第２学年を通じて地理的分野と歴史的分野を（　ア　）学習させることを原則とし，第３学年においては歴史的分野及び公民的分野を学習させること」とあるのは，「地理的分野及び歴史的分野の（　エ　）の上に公民的分野の学習を展開するこの教科の基本的な構造」を踏まえてこの教科の履修について述べたものであり，第１学年と第２学年では地理的分野と歴史的分野を（　ア　）学習させ，更に第３学年では最初に歴史的分野について学習することとしている。したがって，地理的分野は第１，第２学年あわせて（　イ　）単位時間履修させ，歴史的分野については第１，第２学年あわせて（　オ　）単位時間，第３学年の最初に40単位時間履修させ，その上で公民的分野を100単位時間履修させることになる。

	ア	イ	ウ	エ	オ
①	継続して	135	115	成果	95
②	並行して	115	135	成果	75
③	並行して	135	115	基礎	75
④	継続して	135	115	基礎	75
⑤	並行して	115	135	基礎	95

※　次の略地図を見て，問４に答えなさい。

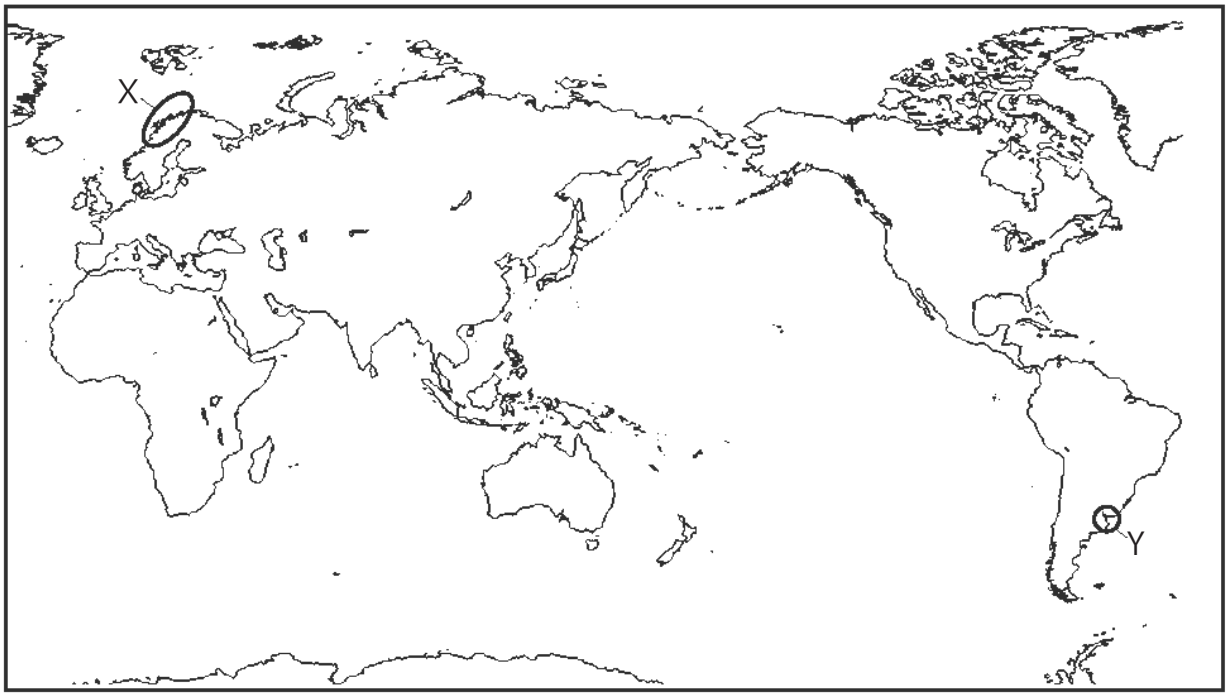

問４　略地図中ＸとＹの海岸地形の正しい組合せを選びなさい。

	X	Y
①	エスチュアリ	リアス海岸
②	リアス海岸	エスチュアリ
③	フィヨルド	リアス海岸
④	エスチュアリ	フィヨルド
⑤	フィヨルド	エスチュアリ

問５　次の《資料Ⅰ》,《資料Ⅱ》は，「大豆」「小麦」のいずれかの輸出上位国を示している。また，資料中のＡ～Ｅは，フランス，ロシア，アメリカ，ブラジル，アルゼンチンのいずれかの国が当てはまる。Ａ～Ｅに当てはまる国の正しい組合せを選びなさい。ただし，同じ記号には同じ国名が入る。

《資料Ⅰ》

2020年	万トン
A	3, 727
B	2, 613
カナダ	2, 611
C	1, 979

《資料Ⅱ》

2020年	万トン
D	8, 297
B	6, 457
パラグアイ	662
E	636

（「2023データブック　オブ・ザ・ワールド」から作成）

	A	B	C	D	E
①	アメリカ	フランス	ロシア	アルゼンチン	ブラジル
②	アメリカ	ロシア	フランス	アルゼンチン	ブラジル
③	ロシア	アメリカ	フランス	ブラジル	アルゼンチン
④	ロシア	フランス	アメリカ	ブラジル	アルゼンチン
⑤	フランス	アメリカ	ロシア	ブラジル	アルゼンチン

※　次の略地図を見て，問６～問７に答えなさい。

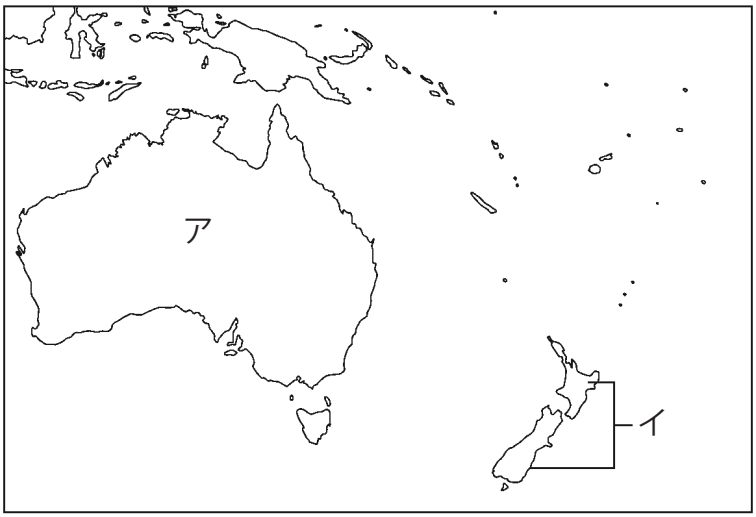

問６　次の《資料》は，略地図中のアの国の輸出相手国の変化を示している。《資料》中のＡ～Ｃは，日本，中国，韓国のいずれかの国が当てはまる。Ａ，Ｃに当てはまる国の正しい組合せを選びなさい。ただし，同じ記号には同じ国名が入る。

《資料》

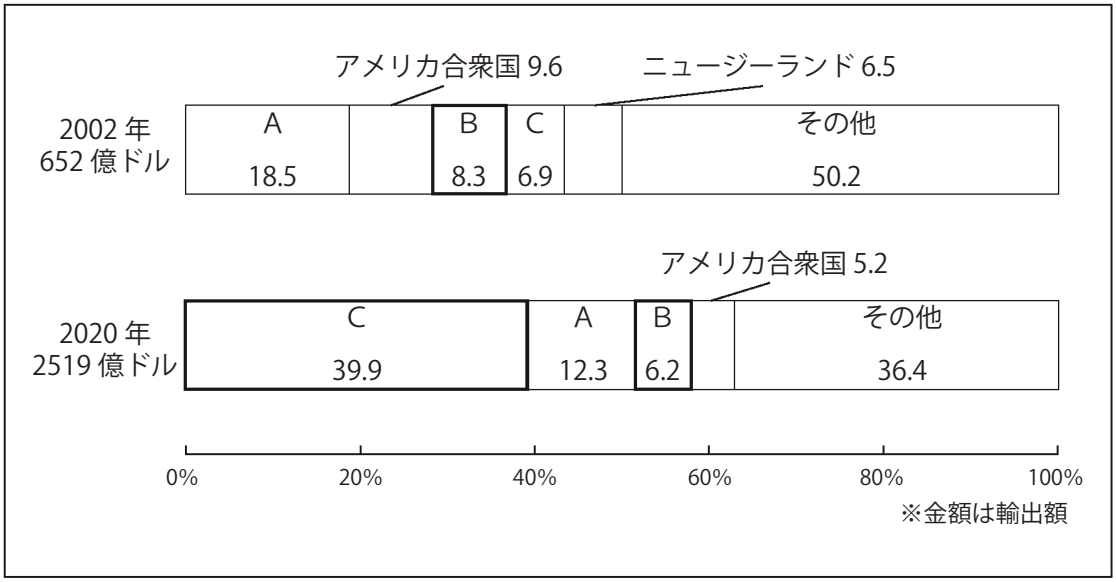

（「世界国勢図会2004 ／ 05」「世界国勢図会2022 ／ 23」から作成）

	A	C
①	中国	韓国
②	日本	中国
③	中国	日本
④	韓国	中国
⑤	日本	韓国

問７　次の文は，略地図イの国について述べたものである。文中の下線部ａ～ｅのうち，正しいものを〇，誤っているものを×としたとき，正しい組合せを選びなさい。

この国は，a せばまるプレート境界である変動帯に位置し，日本と同様に火山や地震が多く見られる。南島には，標高3000mを超える山々がいくつも連なっており，山々にある氷河がつくり出した雄大な自然景観は，観光資源にもなっている。

b 貿易風の影響を受ける西岸海洋性気候で，一年中適度な雨が降るため，牧草がよく育ち c 羊や牛の牧畜が盛んである。

主に d イギリスからの移民によって国づくりが進められたが，英語と共に先住民 e マオリの言語が公用語とされ，多文化社会の一員としての先住民の文化や社会的地位を守る取組が進められている。

	a	b	c	d	e
①	×	〇	×	〇	×
②	×	〇	〇	〇	〇
③	〇	×	×	×	×
④	〇	×	〇	〇	〇
⑤	×	×	〇	×	×

※　次の略地図を見て，問８～問９に答えなさい。

問８　次の《資料》のａ～ｄは，略地図中ア～エの道県の2019年における「食料品」「パルプ・紙・紙加工品」「石油製品・石炭製品」「輸送用機械器具」の製造品出荷額等を示している。ａ～ｄに当てはまる道県の正しい組合せを選びなさい。

《資料》　（単位　億円）

	食料品	パルプ・紙・紙加工品	石油製品・石炭製品	輸送用機械器具
a	22, 288	3, 880	7, 872	3, 845
b	2, 251	960	9, 535	11, 825
c	17, 437	4, 569	7, 721	266, 844
d	16, 296	1, 429	*28, 480	1, 333

*4人以上事業所のみ

（「データでみる県勢2023」から作成）

	a	b	c	d
①	ア	エ	ウ	イ
②	イ	エ	ア	ウ
③	ア	イ	エ	ウ
④	エ	ア	ウ	イ
⑤	エ	イ	ウ	ア

問９　次の《資料》のⅠ～Ⅲは，略地図中Ｘ～Ｚのいずれかの都市の雨温図（1991年から2020年の平均値）を示している。Ⅰ～Ⅲに当てはまる都市の正しい組合せを選びなさい。

《資料》

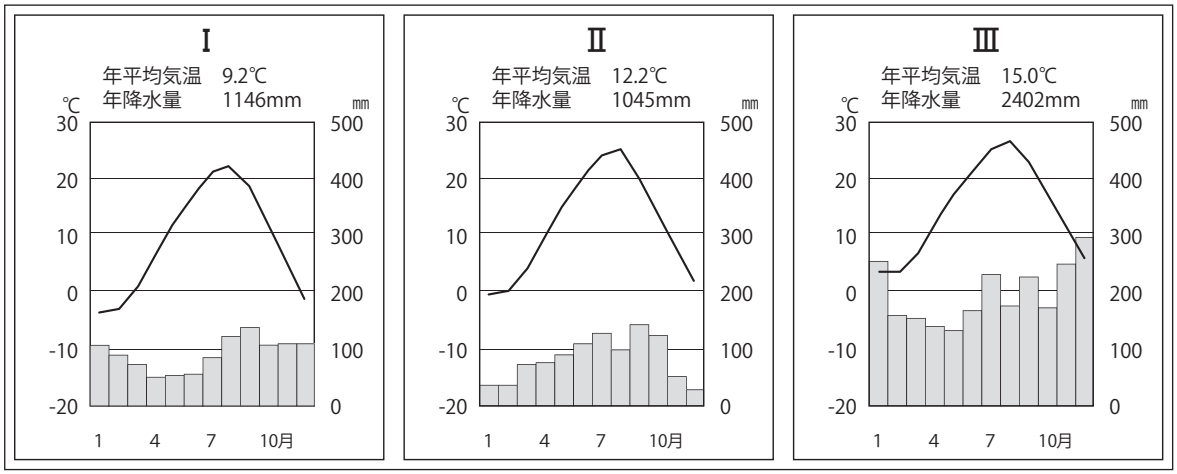

（「理科年表2024」から作成）

	Ⅰ	Ⅱ	Ⅲ
①	Z	Y	X
②	X	Z	Y
③	X	Y	Z
④	Y	X	Z
⑤	Y	Z	X

問10　次のア～エの各文は，人類の進化について述べたものである。文中の下線部ａ～ｄのうち，正しいものを○，誤っているものを×としたとき，正しい組合せを選びなさい。

ア　アフリカ大陸で出現した$_{a}$アウストラロピテクスなどは猿人に分類される。猿人の化石はアフリカにしか発見されておらず，人類はアフリカで誕生したと考えられている。

イ　原人は，脳の大きさが猿人の約２倍となり，$_{b}$火を使用するようになったと考えられている。

ウ　約35万年前にネアンデルタール人に代表される旧人が生まれ，$_{c}$磨製石器の製作技術が進化し，ことばを使う能力も発達したと考えられている。

エ　アフリカ大陸で生まれた新人が日本列島にも渡ってきたとされている。最後の$_{d}$氷期で，海面が現在よりも100メートルほど低下していて大陸とほぼ陸続きになっていたことが渡来のきっかけと考えられている。

	a	b	c	d
①	○	×	○	×
②	×	○	×	×
③	×	×	○	○
④	○	○	×	○
⑤	○	○	○	×

問11　次の文は，古代中国について述べたものである。（　ア　）～（　オ　）に当てはまる最も適切な語句の組合せを選びなさい。ただし，同じ記号には同じ語句が入る。

紀元前４世紀，「戦国の七雄」の１国であった（　ア　）は新しい制度や技術を取り入れて強大化し，紀元前221年には初めて中国を統一した。しかし，相次ぐ軍事行動や土木工事の負担に人々は苦しみ，各地で反乱がおき，（　ア　）は統一後わずか15年で滅亡した。その後，農民出身の（　イ　）が楚の名門出身の項羽を倒し，紀元前202年に中国を統一して（　ウ　）王朝をたてた。

３世紀前半に（　ウ　）王朝が滅亡すると，華北の（　エ　），四川の蜀，長江中・下流域の呉が並び立つ三国時代に突入した。３国中もっとも有力な（　エ　）は蜀を滅ぼしたが，（　エ　）の将軍であった（　オ　）が帝位を奪い晋をたて，呉も破って中国を統一した。

	ア	イ	ウ	エ	オ
①	趙	劉邦	唐	宋	司馬遷
②	秦	劉邦	漢	魏	司馬炎
③	秦	劉備	唐	魏	司馬炎
④	趙	劉備	漢	宋	司馬炎
⑤	趙	劉邦	漢	魏	司馬遷

問12　次の《資料》は，15世紀から17世紀における国内の主な出来事と,世界の主な出来事を左から順に示している。《資料》の（　ア　）～（　オ　）には,《語群》ａ～ｅのいずれかが入る。（　ア　）～（　オ　）に当てはまる最も適切な組合せを選びなさい。

《資料》

時代	（室町）	（安土桃山）	（江戸）
国内の主な出来事	応仁の乱 加賀の一向一揆	種子島に鉄砲が伝来する キリスト教の伝来 （　ア　） （　イ　） 関ヶ原の戦い	朱印船貿易 島原・天草一揆
世界の主な出来事	スペイン王国が成立	バスコ＝ダ＝ガマがインド航路を発見 （　ウ　） マゼラン隊が世界一周を達成 （　エ　） インドにムガル帝国が成立	（　オ　） オランダがスペインから独立を宣言 イギリスがスペインの無敵艦隊を破る イギリスが東インド会社を設立

《語群》

a	コロンブスが西インド諸島に到達
b	織田信長が室町幕府を滅ぼす
c	ルターが宗教改革をとなえる
d	イギリスでエリザベス１世が即位
e	豊臣秀吉が関白となる

	ア	イ	ウ	エ	オ
①	b	e	a	c	d
②	b	e	c	d	a
③	e	b	c	a	d
④	e	b	d	a	c
⑤	b	e	a	d	c

問13　次のａ～ｄの各文は，第一次世界大戦後の世界各国の様子を述べたものである。ａ～ｄの出来事が起きた年代を，古い順に正しく並びかえたものを選びなさい。

a	アメリカのよびかけでワシントン会議が開かれ，アメリカ・イギリス・日本・フランス・イタリアの主力艦の保有比率を定めた海軍軍縮条約が結ばれた。
b	第二次山東出兵の際に，日本軍は国民革命軍とのあいだに武力衝突をおこし，一時，済南城を占領した。
c	連合国とドイツの間で，ヴェルサイユ条約が結ばれ，ドイツはすべての植民地を失い，巨額の賠償金を課せられた。
d	ムッソリーニが政権を握っていたイタリアは，植民地を得ようとエチオピアに侵攻した。

①	c → d → a → b
②	c → b → a → d
③	c → a → b → d
④	a → d → c → b
⑤	a → c → b → d

問14　次のａ～ｅは，日本にある歴史的な建造物である。建てられた年代の古い順にａ～ｅを並べたとき，古い方から２番目と４番目に当たる正しい組合せを選びなさい。

ａ　聖徳太子（厩戸皇子）が斑鳩に建てた寺

ｂ　聖武天皇の遺品が納められていた建物

ｃ　僧の重源が宋の様式を取り入れ再建した門

ｄ　足利義政が東山に建てた１層が書院造，２層が禅宗様の仏堂

ｅ　東北地方を支配した，奥州藤原氏の力を象徴する建物

	２番目	４番目
①	b	e
②	a	d
③	a	c
④	b	c
⑤	a	e

問15　次のア～オの各文は，江戸時代における幕府の政治について述べたものである。正しいものを〇，誤っているものを×としたとき，正しい組合せを選びなさい。

ア	５代将軍徳川綱吉は，儒学を盛んにして，孔子をまつる聖堂を江戸の湯島に建てた。また，生類憐みの令を出して，生類すべての殺生を禁じ，捨て子の保護なども命じた。
イ	朱子学者の新井白石は，金の含有率を下げた元禄小判を改め，慶長小判を鋳造させて，物価の騰貴を抑えようとした。また，倹約令を出すとともに出版統制令を出して政治批判や風俗をきびしく取り締まった。
ウ	８代将軍徳川吉宗は，武士に倹約と武芸をすすめ，才能ある役人は上級の役人にとり立てた。また，目安箱を設けて民衆の意見を政治の参考にし，武家諸法度という法令集をつくり，裁判の基準とした。
エ	田沼意次は，商工業者の同業者組合である株仲間を認め，営業を独占させる代わりに，一定の税を幕府に納めさせた。また，長崎の貿易も盛んにし，幕府の財政改善を図った。
オ	松平定信は，政治をひきしめるとともに，正業をもたない者に資金を与えて，農村に帰ることを奨励した旧里帰農令を出した。また，旗本や御家人の生活難を救うため，棄捐令を出して札差に貸金を放棄させた。

	ア	イ	ウ	エ	オ
①	〇	〇	×	×	〇
②	〇	×	×	〇	〇
③	×	×	〇	〇	×
④	〇	〇	〇	〇	×
⑤	×	〇	〇	×	〇

問16　次のア～オの各文は，日本の司法制度について述べたものである。正しいものを○，誤っているものを×としたとき，正しい組合せを選びなさい。

ア	裁判所には，最高裁判所と下級裁判所がある。下級裁判所として，高等裁判所，地方裁判所，家庭裁判所，簡易裁判所の４種類の裁判所が法律で設けられている。
イ	裁判所は，一切の法律，命令，規則，処分などが，最高法規である憲法に違反していないかどうかを判断する権限である，違憲審査権を有している。これまで，最高裁判所において，違憲審査権に基づいた違憲判決を出したことはない。
ウ	民事裁判，刑事裁判ともに，三回裁判を受けることができる三審制を採用している。第一審の判決に不服であれば上級の裁判所に控訴し，控訴判決についても不服であれば，さらに上級の裁判所に上告することができる。
エ	司法制度改革の一環として，2009年に裁判員制度が導入された。裁判員は，20歳以上の国民からくじで選ばれていたが，成人年齢の引き下げに伴い，18歳以上となっている。
オ	他人の犯罪を告発する見返りに，告発者の処分を軽くする司法取引の制度は，現在の日本でも取り入れられている。対象となる犯罪は，贈収賄や詐欺，脱税，独占禁止法違反などである。

	ア	イ	ウ	エ	オ
①	○	×	×	×	○
②	×	○	×	○	○
③	×	×	○	○	×
④	○	○	○	×	×
⑤	○	×	○	○	○

問17　次の文は，社会保障制度の成り立ちについて述べたものである。（　ア　）～（　オ　）に当てはまる最も適切な語句の組合せを選びなさい。

17世紀のイギリスで，世界初の公的扶助として制定された（　ア　）に始まり，19世紀には，ドイツのビスマルクによる社会保障制度が確立し，1919年には，（　イ　）によって，生存権保障の規定が設けられた。

さらにアメリカでは，世界恐慌によるニューディール政策の一環として，公的扶助と社会保険を統合した（　ウ　）が1935年に制定された。そして，イギリスでは，1942年，社会保険，公的扶助，公的医療などによる，貧困撲滅計画であるベバリッジ報告が出され，「（　エ　）」といわれる社会保障の基礎を作った。

こうした動きによって，多くの国が憲法で生存権を規定し，基本的人権としての社会保障の理念が確立されていった。日本でも，日本国憲法第25条第２項で，「国は，すべての生活部面について，社会福祉，社会保障及び（　オ　）の向上及び増進に努めなければならない。」と国家の義務が規定された。

	ア	イ	ウ	エ	オ
①	エリザベス救貧法	ワイマール憲法	社会保障法	ゆりかごから墓場まで	公衆衛生
②	疾病保険法	プロイセン憲法	国民保険法	健康で文化的な最低限度の生活	環境衛生
③	疾病保険法	ワイマール憲法	国民保険法	ゆりかごから墓場まで	環境衛生
④	疾病保険法	プロイセン憲法	社会保障法	ゆりかごから墓場まで	公衆衛生
⑤	エリザベス救貧法	ワイマール憲法	国民保険法	健康で文化的な最低限度の生活	公衆衛生

問18　次の文は，中小企業について述べたものである。（　ア　）～（　エ　）に当てはまる最も適切な語句の組合せを選びなさい。

近年の規制緩和，産業構造の変化，需要の多様化，経済のグローバル化によって，コンパクトで小回りの利く中小企業に国内外でのビジネスチャンスが生まれている。大企業との下請け取引構造が弱まるなかで，より自立的な経営をおこなう中小企業が増えている。（　ア　）市場におけるイノベーションは日本の中小企業の特徴であり，国際展開をはかる企業も増加している。独創的な商品の開発によって新たな市場に挑戦する（　イ　）のなかには，ＩＣＴ（情報通信技術）やビッグデータを活用して急成長をとげたところがある。その一方で，起業してから短期間に休業や廃業に追い込まれる企業も少なくない。

最近では，環境問題，高齢者支援，地域活性化などに取り組む（　ウ　）企業や，コミュニティ・ビジネスも急増している。また，インターネットなどを通して不特定多数の人に対して，新規事業への資金提供を呼びかけ，その趣旨に賛同した人から資金を調達する（　エ　）も増加している。

	ア	イ	ウ	エ
①	オフショア	ベンチャー企業	社会的	ファンドレイジング
②	オフショア	ファミリー企業	多国籍	クラウド・ファンディング
③	ニッチ	ベンチャー企業	社会的	クラウド・ファンディング
④	ニッチ	ファミリー企業	社会的	ファンドレイジング
⑤	オフショア	ベンチャー企業	多国籍	ファンドレイジング

問19　次のア～オの各文は，国際連合について述べたものである。正しいものを○，誤っているものを×としたとき，正しい組合せを選びなさい。

ア	国際連合には，全ての加盟国で構成され，出資金に応じた票数が与えられる総会が置かれている。総会は，国連憲章に定められた全ての問題について議論を行い，加盟国に対して勧告することができる。
イ	安全保障理事会は，アメリカ・イギリス・中国・フランス・ロシアの５か国の常任理事国と，任期が２年で毎年半数ずつが改選される10か国の非常任理事国から構成されている。重要な議題は，五大国一致の原則がとられ，１か国でも反対すると決定することができない。
ウ	平和維持活動（PKO）は，原則として紛争が起きている国の同意に基づいて行われているものである。日本では，国際平和協力法（PKO法）に基づいて，カンボジアや東ティモールなどに対して自衛隊の派遣を行ってきた。
エ	国家間の争いを法的に解決する仕組みとして，国際司法裁判所が設置されている。本部はスイスのジュネーブにあり，加盟国から依頼された，条約の解釈や国際法上の問題に関する紛争についての裁判を行う。
オ	信託統治理事会は，経済や社会，文化，教育，保健，人権など，非政治的な分野の国際問題について，必要となる調査や研究を行い，報告や勧告を行っている機関である。

	ア	イ	ウ	エ	オ
①	○	×	×	○	○
②	○	○	×	○	×
③	×	×	○	○	×
④	×	○	○	×	×
⑤	×	○	×	×	○

問20　次の会話文は，「私たちと地方自治」というテーマで，あおいさんと，まことさんが学習後に話している場面である。（　ア　）～（　エ　）に当てはまる最も適切な語句の組合せを選びなさい。

あおいさん：まことさん，今日は地方自治について勉強したね。今日の学習を一緒に振り返ってみようよ。

まことさん：地方自治の本旨の１つの住民自治とは，「地方公共団体の活動が，住民の意思と参加に基づいて行われること」だね。

あおいさん：住民の意思が反映される仕組みとして，首長・議員の解職や議会の解散，条例の制定や改廃などを求める直接請求権があるよ。首長・議員の解職や議会の解散の請求には，有権者の３分の１以上の署名が，また，条例の制定または改廃の請求は，有権者の50分の１以上の署名が必要だね。

まことさん：そうだね，首長・議員の解職や議会の解散を求める場合，請求先は（　ア　）だと学習したね。請求の内容によって，署名の数や請求先が異なっているよね。

あおいさん：首長や議員の解職請求のことを「リコール」，条例の制定または改廃の請求については，「（　イ　）」とよぶこともあるよ。

まことさん：また，（　ウ　）で生まれた制度である，オンブズマン制度も広がっているね。オンブズマンは住民からの苦情を受けつけ，調査結果を公表したり，必要に応じて地方公共団体に改善を求めたりしているよ。
※オンブズマンはオンブズ・パーソンとよばれることもある。

あおいさん：イギリスの政治家であった（　エ　）は，地方自治は「民主主義の学校」だと述べているよね。これは民主主義が地方自治の伝統の上に築かれ，住民が地域の自治に参画することにより，主権者としての自覚を高めてきたことを意味していると言われているよ。

	ア	イ	ウ	エ
①	選挙管理委員会	イニシアティブ	スウェーデン	ブライス
②	選挙管理委員会	レファレンダム	フィンランド	トックビル
③	監査委員	イニシアティブ	フィンランド	ブライス
④	監査委員	レファレンダム	スウェーデン	トックビル
⑤	監査委員	イニシアティブ	スウェーデン	トックビル

※以下の問題は記述問題とする。
次の 問21 ～ 問24 の解答は，全て「解答用紙（記述用）」に記入しなさい。

問21　次の文は，中学校学習指導要領解説社会編（平成29年文部科学省）「第２章　社会科の目標及び内容」「第２節　各分野の目標及び内容」「１　地理的分野の目標，内容及び内容の取扱い」「⑵　内容」「Ｃ　日本の様々な地域」の一部を抜粋したものである。文中の（　ａ　）～（　ｄ　）に当てはまる語句を《語群》ア～カから選び，それぞれ記号で答えなさい。ただし，同じ記号には同じ語句が入る。

　このうち，地域の共通点や差異については，ある指標を基に他と異なる共通した性質をもつ（　ａ　）としての空間的なまとまりを見いだすことを意味している。
　ここでは，作成された地域区分と他の項目から作成された地域区分を比較し，共通点や差異，分布の（　ｂ　）に着目して，多面的・多角的に考察し，その結果を表現できるようにすることが大切であり，この分布の（　ｂ　）については，地理的な事象の分布の粗密を調べることで，中心と周辺からなる（　ｃ　）としての圏構造を見いだすことが考えられる。
　地域の特色は，他地域と比較したり関連付けたりすることによってより一層明らかになってくる。しかし，一方で比較の仕方や関連付け方によっては，ある面だけを強調したりして誤解を助長する恐れもある。したがって，地域を比較し関連付ける際には，地域の（　ｄ　）に対応させたり，より視野を広げてみたり，過去と現在といった時間的経過などを考慮したりして，適切かつ多面的・多角的に取り扱うよう工夫する必要がある。

《語群》

ア　等質地域　　イ　機能地域　　ウ　変容　　エ　規模　　オ　傾向性　　カ　規則性

問22　次の《資料Ⅰ》は東京都中央卸売市場におけるなすの取扱実績（令和４年），《資料Ⅱ》は高知市の雨温図（1991年から2020年の平均値）を示している。⑴，⑵の各問いに答えなさい。

《資料Ⅰ》

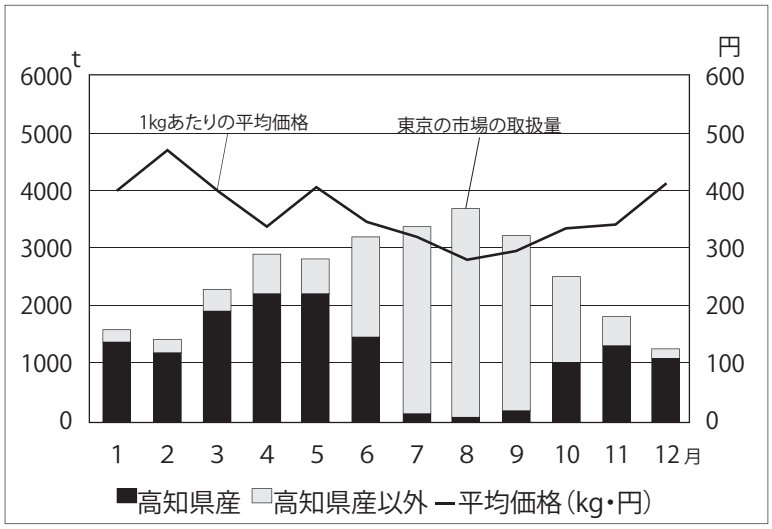

（東京都中央卸売市場ホームページから作成）

《資料Ⅱ》

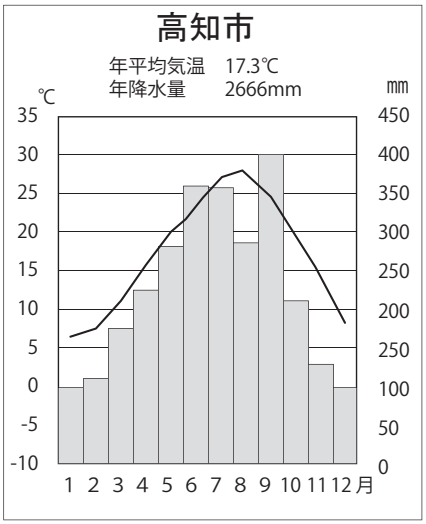

（「理科年表2024」から作成）

⑴　《資料Ⅰ》からわかる高知県産なすの出荷の工夫とその利点を答えなさい。

⑵　⑴のような工夫が可能となる理由を，《資料Ⅱ》からわかる気候の特徴となす栽培の特徴を関連づけて答えなさい。

問23　次の《資料Ⅰ》～《資料Ⅲ》をみて，⑴～⑶の各問いに答えなさい。

《資料Ⅰ》　人権宣言（一部要約）

第１条　人は生まれながらにして，自由・平等である。 第３条　すべての主権の淵源は，本来的に国民にある。 第４条　自由とは，他人を害しないすべてのことをなしうることにある。 第５条　何人も，法律が命じていないことを行うように強制されない。

《資料Ⅱ》

《資料Ⅲ》

⑴　フランス革命が起こる以前，ルイ14世のころに絶頂を迎えていた，国王による専制政治のことを何というか，答えなさい。

⑵　《資料Ⅰ》に影響を与えたルソーは，その著書で，「契約によって国家を形成する人民こそが主権者であり，間接的な議会制ではなく，個人が社会の統治に直接民主政の形で参加するべき」と説いた。この著書を答えなさい。

⑶　《資料Ⅱ》はフランス革命前の様子を，《資料Ⅲ》は平民の要求を表したものである。平民がどのような世の中を求めていたのかを，３人の関係性の違いに着目しながら答えなさい。なお，その際，「３人の身分」と「石が何を表しているか」を明らかにすること。

問24　次の《資料Ⅰ》,《資料Ⅱ》をみて，⑴，⑵の各問いに答えなさい。

《資料Ⅰ》需要と供給の関係を表したグラフ

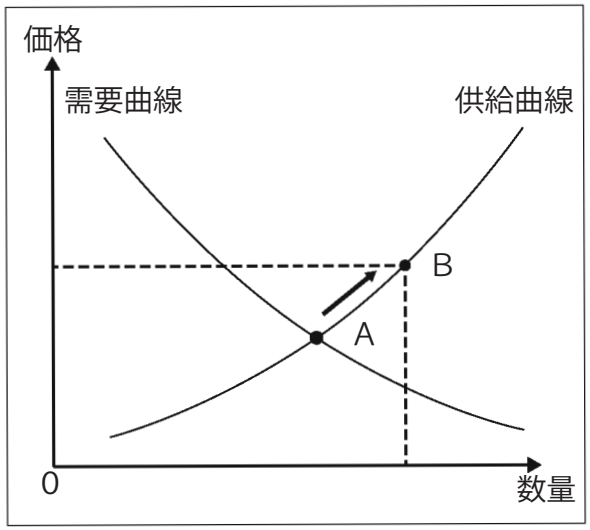

《資料Ⅱ》

第１条　この法律は，不当な取引制限及び不公正な取引方法を禁止し，事業支配力の過度の集中を防止して，結合，協定等の方法による生産，販売，価格，技術等の不当な拘束を排除する。

第２条第６項　「不当な取引制限」とは，他の事業者と共同して対価を決定し，維持し，若しくは引き上げることにより，公共の利益に反して，一定の取引分野における競争を実質的に制限することをいう。

（一部要約）

⑴　《資料Ⅰ》はある財の需要と供給の関係を表したものである。《資料Ⅰ》中の点Ａは，需要と供給が等しくなる均衡点を表している。ところがある要因によって，均衡点がＢに移動した。このような変化が生じる理由として，当てはまるものを一つ選び，記号で答えなさい。

ア　消費者の所得が増加し，財の購買意欲が向上した。
イ　設備投資などで，生産性が向上した。
ウ　企業等が他の財への生産に切り替えた。
エ　財の生産や収穫が減少した。

⑵　《資料Ⅱ》は，市場メカニズムの機能が発揮されず市場の失敗が生じ，消費者に不利益をもたらすことを防ぐために制定された法律の一部である。

この法律で禁止されている，①，②の状態をそれぞれ答えなさい。

①　製品・サービスの供給が１社に占有され，その企業が市場で価格支配力をもつ場合。
②　供給が複数企業にしぼられ，価格が競争ではなく協調によって決定される場合。

解答用紙（記述用）

社　会	1の1

（令和７年度）

受験番号	氏　　名
第　　番	

問21

a		b		c		d	

問22

(1)	
(2)	

問23

(1)	
(2)	
(3)	

問24

(1)				
(2)	①		②	

令和７年度福岡県公立学校教員採用候補者選考試験　解答及び配点

教科・科目：中学校社会科

	解　答	配　点		解　答	配　点
問 1	③	5	問 32		
問 2	②	5	問 33		
問 3	⑤	5	問 34		
問 4	⑤	5	問 35		
問 5	③	5	問 36		
問 6	②	5	問 37		
問 7	④	5	問 38		
問 8	①	5	問 39		
問 9	③	5	問 40		
問 10	④	5	問 41		
問 11	②	5	問 42		
問 12	①	5	問 43		
問 13	③	5	問 44		
問 14	④	5	問 45		
問 15	②	5	問 46		
問 16	⑤	5	問 47		
問 17	①	5	問 48		
問 18	③	5	問 49		
問 19	④	5	問 50		
問 20	①	5	問 51		
問 21	記述	１２	問 52		
問 22	記述	１２	問 53		
問 23	記述	１４	問 54		
問 24	記述	１２	問 55		
問 25			問 56		
問 26			問 57		
問 27			問 58		
問 28			問 59		
問 29			問 60		
問 30			問 62		
問 31			問 63		

解答用紙（記述用）

社　会	1の1

（令和７年度）

受験番号	氏　名
第　　番	

問 21

a	ア	b	オ	c	イ	d	エ

12

問 22

（1）	流通量が少ない時期に出荷することで，高い価格で取引できるという利点がある。	6
（2）	温暖な気温を生かし，なすの生育を早める促成栽培を行っているから。	6

問 23

（1）	絶対王政	4
（2）	社会契約論	4
（3）	僧，貴族に特権が与えられ，重税を表す石に平民が苦しめられている状況から，僧，貴族，平民が平等に税を負担する世の中を求めている。	6

問 24

（1）	ア				4
（2）	①	独占	②	寡占	8