令和８年度

福岡県公立学校教員

採用候補者選考試験問題

中　学　校　社　会

1　中学校社会の問題は下記のとおりです。
　　択一問題　問 1 ～問20
　　記述問題　問21 ～問24

2　択一問題は，全て「ＯＣＲ解答用紙」に記入してください。

3　記述問題は，全て「解答用紙（記述用）」に記入してください。

問１ ～ 問20 の解答は，全て [　　] の①～⑤から一つ選び，その番号を「ＯＣＲ解答用紙」にマークしなさい。

問１　次の文は，中学校学習指導要領解説社会編（平成29年文部科学省）「第２章　社会科の目標及び内容」「第１節　教科の目標」の一部を抜粋したものである。文中の（　ア　）～（　オ　）に当てはまる語句の正しい組合せを選びなさい。ただし，同じ記号には同じ語句が入る。

⑴　我が国の国土と歴史，現代の政治，経済，国際関係等に関して理解するとともに，調査や諸資料から様々な情報を効果的に調べ（　ア　）技能を身に付けるようにする。

我が国の国土と歴史，現代の政治，経済，国際関係等については，中学校社会科で扱う学習対象を示し，それらに関して理解するとは，単に知識を身に付けることではなく，基礎的・基本的な知識を確実に習得しながら，既得の知識と関連付けたり（　イ　）たりしていくことにより，学習内容の深い理解と，個別の知識の定着を図るとともに，社会における様々な場面で活用できる，（　ウ　）などに関する知識として獲得していくことをも示している。

調査や諸資料から様々な情報を効果的に調べ（　ア　）技能を身に付けるについては，調査活動や諸資料の活用など手段を考えて課題の解決に必要な社会的事象に関する情報を（　エ　）する技能，（　エ　）した情報を社会的な見方・考え方を働かせて読み取る技能，読み取った情報を課題解決に向けて（　ア　）技能を身に付けることを意味している。

これらの技能は，単元など内容や時間のまとまりごとに全てを身に付けようとするものではなく，資料の特性等とともに情報を（　エ　）する手段やその内容に応じて様々な技能や留意すべき点が存在すると考えられる。そのため，小学校の社会科での学習を踏まえるとともに，高等学校の地理歴史科，公民科での学習を視野に，中学校社会科の学習において生徒が身に付けることが目指される技能を（　オ　）し，その習熟を図るように指導することが大切である。

	ア	イ	ウ	エ	オ
①	まとめる	組み合わせ	概念	整理	効果的に活用
②	分析する	比較し	概念	収集	効果的に活用
③	まとめる	組み合わせ	概念	収集	繰り返し活用
④	分析する	組み合わせ	観念	整理	繰り返し活用
⑤	まとめる	比較し	観念	収集	効果的に活用

問２　次の文は，中学校学習指導要領解説社会編（平成29年文部科学省）「第２章　社会科の目標及び内容」「第２節　各分野の目標及び内容」「２　歴史的分野の目標，内容及び内容の取扱い」「⑵　内容」「Ｂ　近世までの日本とアジア」の一部を抜粋したものである。文中の（　Ａ　）～（　Ｅ　）に当てはまる語句の正しい組合せを選びなさい。ただし，同じ記号には同じ語句が入る。

⑴　古代までの日本

課題を追究したり解決したりする活動を通して，次の事項を身に付けることができるよう指導する。

ア　次のような知識を身に付けること。

㈠　世界の古代文明や宗教のおこり

㈡　日本列島における国家形成

㈢　律令国家の形成

㈣　古代の文化と東アジアとの関わり

イ　次のような思考力，判断力，表現力等を身に付けること。

㈠　古代文明や宗教が起こった場所や環境，農耕の広まりや生産技術の発展，東アジアとの接触や交流と政治や文化の変化などに着目して，事象を相互に関連付けるなどして，アの㈠から㈣までについて古代の社会の変化の様子を多面的・多角的に考察し，表現すること。

㈡　古代までの日本を（　Ａ　）して，時代の特色を多面的・多角的に考察し，表現すること。

アの㈠から㈣までの事項を学習するに当たっては，生徒の学習への動機付けや（　Ｂ　）を促しつつ，イの㈠の「古代文明や宗教が起こった場所や環境」，「農耕の広まりや生産技術の発展」，「東アジアとの接触や交流と政治や文化の変化」などに着目して，例えば，「本格的な稲作の広まりによって社会はどのように変化したのだろうか」，「中国をはじめとする東アジアとの交流は，日本の文化にどのような影響を与えたのだろうか」などの課題（問い）を設定することで，社会的事象の歴史的な見方・考え方を働かせて，その課題について，多面的・多角的に考察，表現できるようにすることが大切である。

イの㈡の（　Ａ　）して，時代の特色を多面的・多角的に考察し，表現することとは，「我が国の歴史の大きな流れ」を「各時代の特色を踏まえて理解する」という歴史的分野の学習の基本的なねらいを踏まえ，各中項目のまとめとして位置付けたものである。各時代の特色を大きく捉え，政治の展開，産業の発達，社会の様子，文化の特色など他の時代との（　Ｃ　）に着目して，学習した内容を比較したり関連付けたりするなどして，その結果を言葉や図などで表したり，互いに意見交換したりする活動を示している。

このような活動によって，「思考力，判断力，表現力等」を養うとともに，各時代の特色を生徒が（　Ｄ　）で表現できるような「（　Ｅ　）と定着を図る」（内容の取扱い⑴ウ）ことが求められる。

	A	B	C	D	E
①	大観	見通し	共通点や相違点	適切な方法	言語能力の育成
②	注視	主体性	共通点や相違点	適切な方法	言語能力の育成
③	注視	見通し	関係性や類似性	適切な方法	確かな理解
④	大観	主体性	関係性や類似性	自分の言葉	確かな理解
⑤	大観	見通し	共通点や相違点	自分の言葉	確かな理解

問３　次の文は，中学校学習指導要領解説社会編（平成29年文部科学省）「第３章　指導計画の作成と内容の取扱い」「２　内容の取扱いについての配慮事項」の一部を抜粋したものである。文中の（　ア　）～（　エ　）に当てはまる語句の正しい組合せを選びなさい。ただし，同じ記号には同じ語句が入る。

> ⑷　社会的事象については，生徒の考えが深まるよう様々な見解を提示するよう配慮し，多様な見解のある事柄，（　ア　）な事柄を取り上げる場合には，有益適切な教材に基づいて指導するとともに，特定の事柄を強調し過ぎたり，一面的な見解を十分な配慮なく取り上げたりするなどの偏った取扱いにより，生徒が多面的・多角的に考察したり，事実を客観的に捉え，（　イ　）したりすることを妨げることのないよう留意すること。

これは，各分野の指導において，社会的事象について多面的・多角的に考察したり，事実を客観的に捉え，（　イ　）したりすることのできる生徒の育成を目指す際の留意点を示したものである。

社会科の目標に規定されている「グローバル化する国際社会に主体的に生きる平和で民主的な国家及び社会の形成者に必要な公民としての資質・能力の基礎」を育成することに向けて，「多様な見解のある事柄，（　ア　）な事柄」なども含む現実の課題に関する社会的事象を取り扱うことは，生徒が現実の社会の在り方について具体的に考察，（　ウ　）したり，国民主権を担う公民としての自覚などを深めたりするために効果的である。一方，これらの社会的事象について，一面的な見解を十分な配慮なく取り上げた場合，ともすると恣意的な考察や判断に陥る恐れがあるため，このような規定を設けている。

「多様な見解のある事柄，（　ア　）な事柄」については，一つの見解が絶対的に正しく，他の見解は誤りであると断定することは困難であるとともに，一般に，とりわけ政治においては自分の意見をもちながら議論を交わし（　エ　）を図っていくことが重要であるから，公民的分野のみならず，地理的分野及び歴史的分野の学習においても，一つの結論を出すよりも結論に至るまでの冷静で理性的な議論の過程が大切であることを理解できるように指導し，全体として社会科の目標が実現されるように配慮することが必要である。

	ア	イ	ウ	エ
①	限定的	公平に選択	構想	意思決定
②	未確定	公平に選択	検討	意思決定
③	未確定	公正に判断	検討	意思決定
④	未確定	公正に判断	構想	合意形成
⑤	限定的	公正に判断	構想	合意形成

※　次の略地図を見て，問４～５に答えなさい。ただし，各略地図の縮尺は同じではない。

《略地図》

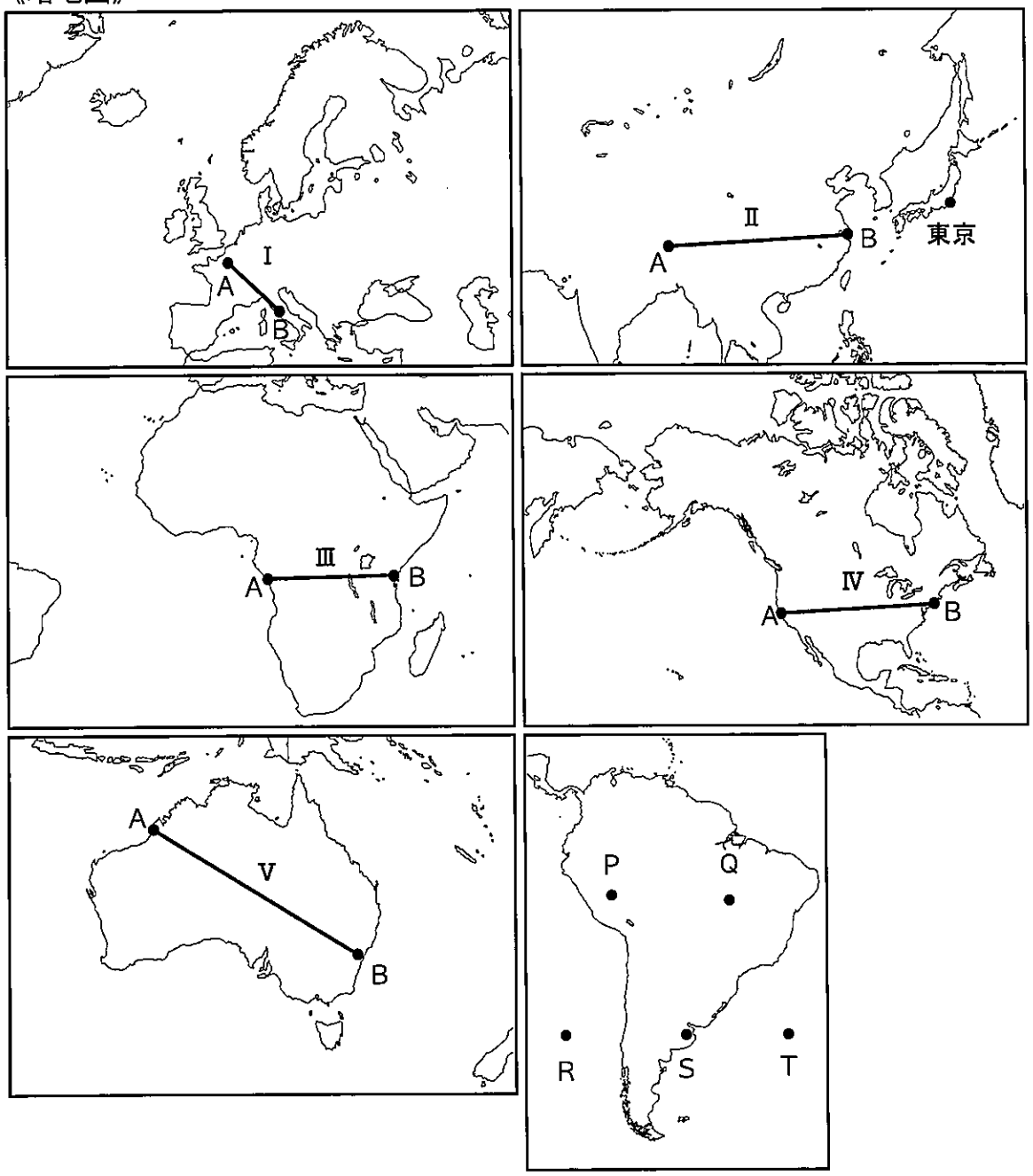

問４　略地図中Ⅰ～Ⅴの線は，ある２都市間を結んだものである。これらの線で切った《断面図》として正しい組合せを選びなさい。

《断面図》

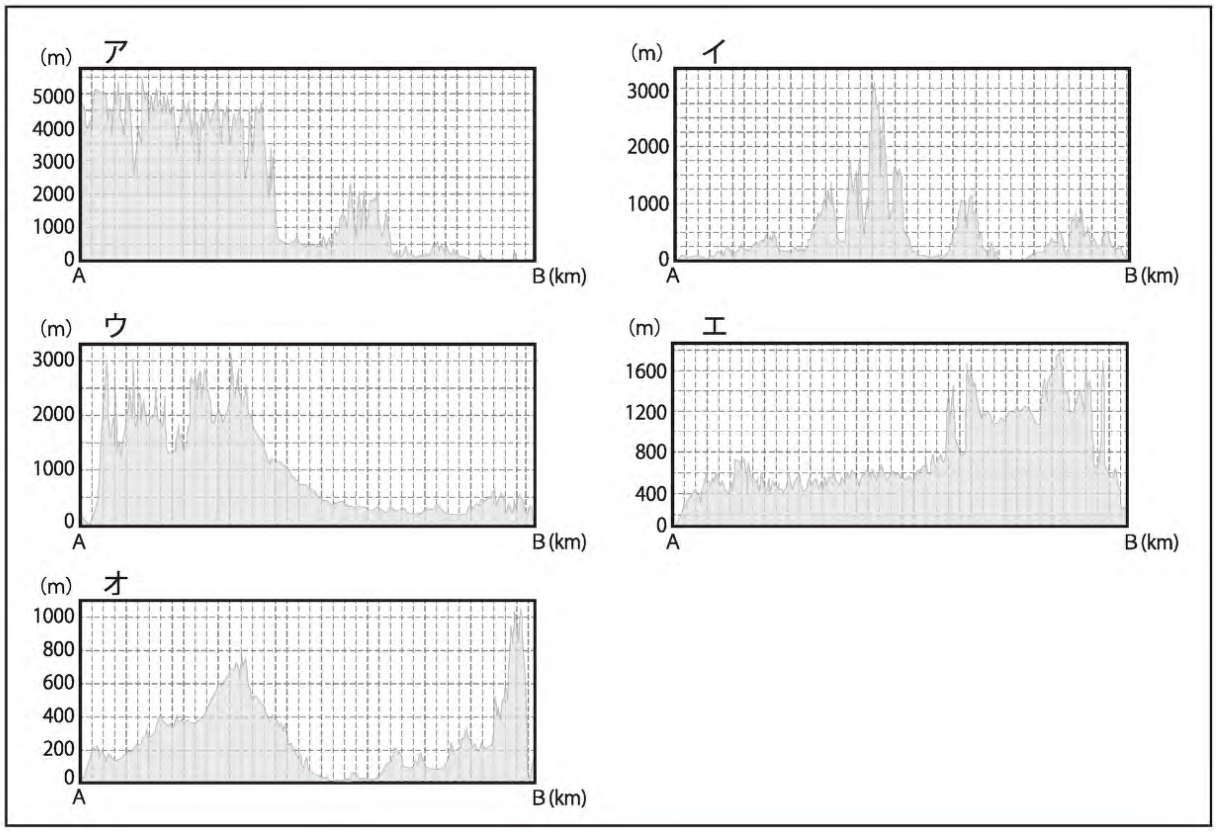

（国土地理院ＨＰから作成）

	Ⅰ	Ⅱ	Ⅲ	Ⅳ	Ⅴ
①	イ	ア	エ	ウ	オ
②	エ	ア	イ	ウ	オ
③	エ	オ	イ	ア	ウ
④	イ	ア	エ	オ	ウ
⑤	イ	エ	ア	オ	ウ

問５　略地図中Ｐ～Ｔのうち，東京の対蹠点として最も適切なものを選びなさい。

①	P
②	Q
③	R
④	S
⑤	T

※　次の略地図を見て，問６に答えなさい。

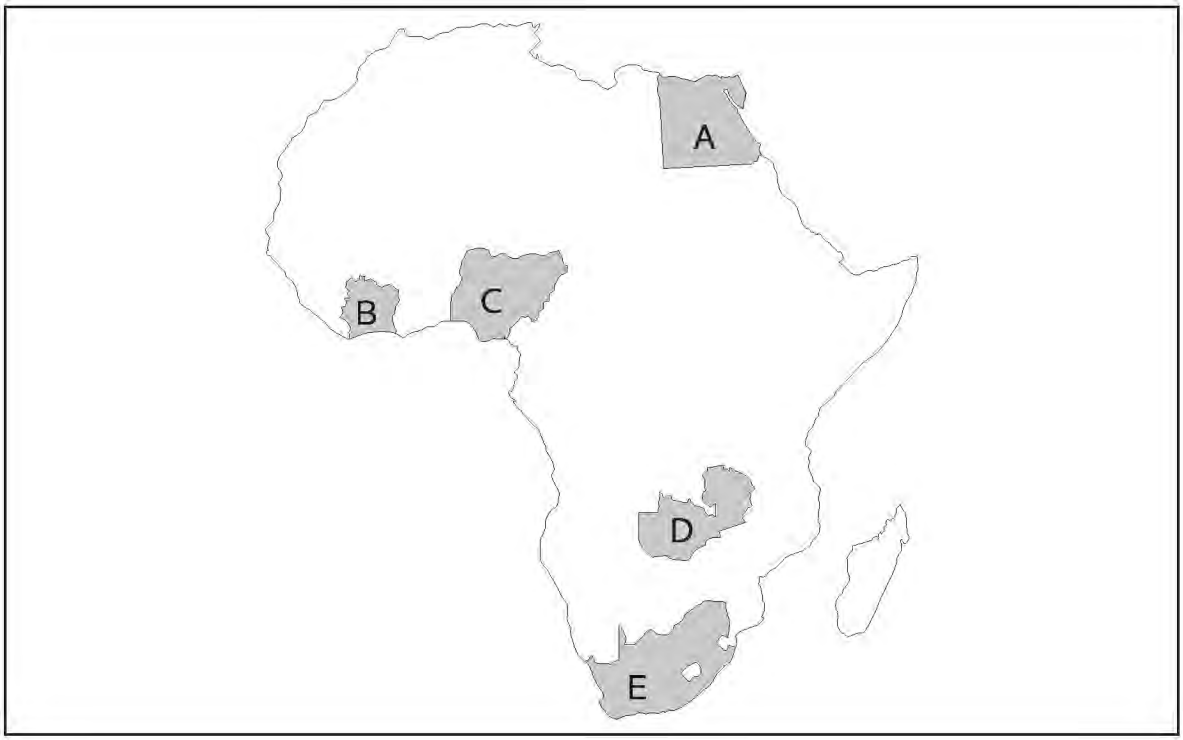

問６　次の《資料》中のア～オは，略地図中Ａ～Ｅの国のいずれかを示している。Ａ～Ｅに当てはまる国の正しい組合せを選びなさい。

《資料》

	人口（千人） 2023年	1人あたりＧＮＩ（ドル） 2022年	おもな輸出品 2022年
ア	223,805	1,998	原油・液化天然ガス
イ	60,414	6,615	プラチナ・石炭
ウ	112,717	3,566	液化天然ガス・石油製品
エ	20,570	1,349	銅・鉄鋼
オ	28,873	2,409	カカオ豆・石油製品

（「世界国勢図会2024/25」から作成）

	A	B	C	D	E
①	ウ	オ	ア	イ	エ
②	ウ	イ	ア	エ	オ
③	エ	イ	ウ	ア	オ
④	エ	オ	ウ	ア	イ
⑤	ウ	オ	ア	エ	イ

問７　次の《会話文》は，るいさんと，ひなたさんが《写真Ⅰ》と《写真Ⅱ》を見て話している場面である。《会話文》中の（　A　），（　B　）に当てはまる語句の正しい組合せを選びなさい。

《会話文》

るい　：今日は海岸の地形について学習したね。
ひなた：《写真Ⅰ》では，沖合の島と海岸を結び付けるように伸びた砂州が分かるね。これを（　A　）と言うよ。
るい　：《写真Ⅱ》では，（　B　）と呼ばれる，砂州などで外海と隔てられた水域がみられるよ。
ひなた：このほかにも様々な地形があるみたいだ。これからも調べてみよう。

《写真Ⅰ》

《写真Ⅱ》

	A	B
①	トンボロ	ドリーネ
②	ラグーン	トンボロ
③	モレーン	ドリーネ
④	トンボロ	ラグーン
⑤	モレーン	ラグーン

※　次の略地図を見て，問８に答えなさい。

問８　次の《資料》中のア～オは略地図中Ａ～Ｅのいずれかの府県を示している。Ａ～Ｅに当てはまる府県の正しい組合せを選びなさい。

《資料》

	乗用車の100世帯あたり保有台数（台）2022年度	社会増減率（%）2021 ～ 22年	民営事業所数 2021年	宿泊施設での延べ外国人宿泊者数（千人泊）2022年
ア	113.5	−0.19	59,710	33
イ	68.0	0.36	285,325	509
ウ	80.2	0.16	110,564	1,413
エ	62.7	0.26	384,332	2,130
オ	125.9	0.16	95,305	66

（「データで見る県勢2024」から作成）

	A	B	C	D	E
①	オ	イ	ウ	ア	エ
②	オ	ア	ウ	エ	イ
③	ウ	イ	エ	オ	ア
④	ウ	ア	エ	オ	イ
⑤	オ	イ	ウ	エ	ア

問９　次の《資料Ⅰ》～《資料Ⅲ》中のア～クは九州地方各県のいずれかを示している。《資料Ⅰ》は製造品出荷額等とその内訳，《資料Ⅱ》は農業産出額，《資料Ⅲ》は耕地率と耕地面積を示している。ウ，オに当たる県の組合せとして正しいものを選びなさい。ただし，同じ記号には同じ県が入る。

《資料Ⅰ》製造品出荷額等とその内訳（2021年）

《資料Ⅱ》農業産出額（2021年）

	（億円）
ア	1,206
イ	3,478
ウ	3,477
エ	1,968
オ	1,551
カ	922
キ	1,228
ク	4,997

《資料Ⅲ》耕地率と耕地面積（2022年）

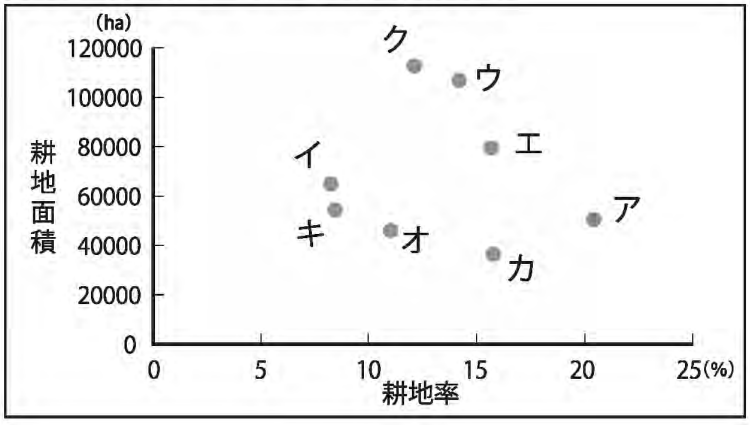

（「データで見る県勢 2024」から作成）

	ウ	オ
①	熊本県	大分県
②	宮崎県	長崎県
③	熊本県	長崎県
④	宮崎県	佐賀県
⑤	鹿児島県	佐賀県

問10　次の各文は，古代における我が国の様子について述べたものである。文中の（　ア　）～（　オ　）に当てはまる最も適切な語句の組合せを選びなさい。

○　５世紀初めから約１世紀近くのあいだ,『宋書』倭国伝に讃・珍・済・興・武と記された倭の五王が冊封を求めて中国の（　ア　）に朝貢した。

○　敏達天皇の后で，最初の女性天皇である推古天皇が飛鳥で即位し，国際的な緊張のもとで大臣の（　イ　）や推古天皇の甥の厩戸王（聖徳太子）らが協力して国家組織の形成を進めた。

○　律令国家では，民衆は戸籍・計帳に登録され，負担が課せられた。（　ウ　）は口分田などの収穫から３％程度の稲をおさめるもので，おもに諸国の各郡におかれた正倉に貯蔵された。

○　最澄は，遣唐使に従って入唐し，帰国したあとに（　エ　）を始め，最澄の開いた比叡山からは，多くの優れた僧が育った。

○　摂政・関白がおかれずに親政がおこなわれた醍醐天皇及び（　オ　）の時代は，のちに「延喜・天暦の治」と称されるようになった。

	ア	イ	ウ	エ	オ
①	北朝	藤原不比等	租	真言宗	後一条天皇
②	北朝	蘇我馬子	調	真言宗	村上天皇
③	南朝	蘇我馬子	租	真言宗	後一条天皇
④	南朝	藤原不比等	調	天台宗	村上天皇
⑤	南朝	蘇我馬子	租	天台宗	村上天皇

問11　次の文は，13世紀から14世紀における東アジアについて述べたものである。文中の下線部ａ～ｅのうち，正しいものを○，誤っているものを×としたとき，正しい組合せを選びなさい。

> モンゴル高原から華北・チベット・朝鮮半島などの地域を勢力基盤としたフビライ＝ハンは，元という中国風の国名を定め，都を$_{a}$長安に移した。1276年に元は$_{b}$南宋を滅ぼし，中国全土の支配を完成させた。
> フビライ＝ハンに仕えたとされるイタリアの商人マルコ＝ポーロの見聞をまとめた旅行記『$_{c}$集史』は，ヨーロッパで大きな反響を呼んだ。
> 14世紀半ばに$_{d}$黄巾の乱をはじめとする反乱が各地でおこり，1368年に元は$_{e}$明軍に$_{a}$長安を奪われて，モンゴル高原に退いた。

	a	b	c	d	e
①	×	×	○	○	○
②	×	○	×	×	○
③	×	○	×	○	×
④	○	×	×	○	×
⑤	○	○	○	×	×

問12　次の《資料》は，11世紀から15世紀における我が国の主な出来事を左から順に示している。《資料》中の（　ア　）～（　オ　）には，《語群》ａ～ｅのいずれかが入る。（　ア　）～（　オ　）に当てはまる最も適切な組合せを選びなさい。

《資料》

時代	（平安）		（鎌倉）			（室町）				
主な出来事	（ア）	平清盛が太政大臣になる 保元の乱	源頼朝が征夷大将軍になる	（イ） 承久の乱	弘安の役 文永の役	（ウ）	足利尊氏が征夷大将軍になる 建武の新政	足利義満が幕府を室町に移す	（エ）	（オ）	応仁の乱

《語群》

a	正長の徳政一揆
b	永仁の徳政令
c	南北朝の統一
d	白河上皇が院政をはじめる
e	御成敗式目の制定

	ア	イ	ウ	エ	オ
①	d	e	a	c	b
②	d	e	b	c	a
③	e	d	c	b	a
④	e	d	a	b	c
⑤	d	e	b	a	c

問13 《資料》中のａ～ｄは，近世から近代における我が国の政治や外交に関する文書の一部である。ａ～ｄの年代を，古い順に正しく並びかえたものを選びなさい。

《資料》

a	第１条　朝鮮国は自主の国であり，日本国と平等の権利をもつ。 第10条　日本国の人民が朝鮮国の貿易港で罪を犯し，朝鮮国の人民と交渉が必要な事件は，すべて日本国の領事が裁判を行う。 第11条　両国は，別に通商の決まりを定め，両国の商人の便を図る。 （一部要約）
b	イギリスに限らず，南蛮や西洋の国は幕府が厳禁しているキリスト教の国であるから，今後はどこの海辺の村においても，外国船が乗り寄せてきたのを見たならば，その村にいる人々で，ためらうことなく，ひたすら撃退し，もし強引に上陸したならばつかまえ，場合によっては討ち取っても差し支えない。 （部分要約）
c	一　中国政府は，ドイツが山東省にもっている一切の権益を日本にゆずる。 一　日本の旅順・大連の租借の期限，南満州鉄道の期限を99か年延長する。 一　中国政府は，南満州・東部内蒙古における鉱山の採掘権を日本国民に与える。 （一部要約）
d	第３条　下田・函館のほか，神奈川，長崎，新潟，兵庫を開港すること。…神奈川を開いた６か月後，下田を閉ざすこと。 第６条　日本人に対して法を犯したアメリカ人は，アメリカ領事裁判所において取り調べのうえ，アメリカの法律によってばっすること。 （部分要約）

①	b → a → d → c
②	b → d → c → a
③	b → d → a → c
④	d → a → b → c
⑤	d → b → c → a

問14　次の《会話文》は，あおいさんと，まことさんが《写真》中のａ～ｅを見て人物の業績について会話をしている場面である。《会話文》中の下線部ａ～ｅのうち，正しいものを○，誤っているものを×としたとき，正しい組合せを選びなさい。なお，《写真》中のａ～ｅと《会話文》中の下線部ａ～ｅは対応しているものとする。

《写真》

ａ　一万円札（令和６年７月発行開始）の人物

ｂ　五千円札（令和６年７月発行開始）の人物

ｃ　千円札（令和６年７月発行開始）の人物

ｄ　旧一万円札（平成16年11月発行開始）の人物

ｅ　旧五千円札（平成16年11月発行開始）の人物

《会話文》

あおい：お札に肖像として描かれた人物を調べると，一万円札は，a第一国立銀行や大阪紡績会社など多くの企業の設立・経営に関わり，産業の発展に力を尽くした人物だね。

まこと：五千円札は，b岩倉使節団に同行し，後に女子英学塾をつくって女子教育に生涯をささげた人物だね。

あおい：また，千円札は，cドイツ留学中にタカジアスターゼを発明し，アドレナリンの抽出に成功して海外で評価される成果をあげた人物だね。

まこと：旧一万円札は，d『民約訳解』を刊行し，国民の考え方を転換させるうえで大きな働きをした人物だね。

あおい：また，旧五千円札は，e詩歌の分野で活躍し，日露戦争に出兵した弟を思って，文芸誌『明星』に「君死にたまふこと勿れ」とうたう反戦詩を発表した人物だね。

	a	b	c	d	e
①	○	○	×	×	×
②	×	×	×	○	○
③	○	○	○	○	×
④	×	○	×	×	○
⑤	○	×	○	×	×

問15　次のａ～ｅの各文は，1950年以降の我が国の様子を述べたものである。ａ～ｅの出来事を古い順に並べたとき，古い方から２番目と４番目に当たる正しい組合せを選びなさい。

a	循環型社会形成推進基本法が制定された。
b	テレビ放送が開始された。
c	地球温暖化防止京都会議が開かれ，京都議定書が採択された。
d	環境庁が設置された。
e	東海道新幹線が開通した。

	２番目	４番目
①	b	a
②	b	c
③	e	c
④	e	d
⑤	e	a

問16　次のア～エの各文は，日本国憲法について述べたものである。正しいものを○，誤っているものを×としたとき，正しい組合せを選びなさい。

ア	職業選択の自由や財産権の保障，居住・移転の自由といった，経済活動の自由を保障している。
イ	ひとつの地方公共団体のみに適用される特別法を国会が制定するためには，その地方公共団体の住民の投票においてその３分の２以上の同意を得なければ，制定することができない。
ウ	団結権や団体交渉権，団体行動権（争議権）を保障している。
エ	国民は，納税の義務，教育を受ける義務，勤労の義務を負うことが定められている。

	ア	イ	ウ	エ
①	○	×	×	○
②	○	○	×	×
③	○	×	○	×
④	×	○	×	○
⑤	×	×	○	×

問17　次の《資料》は，衆議院の優越について示したものである。《資料》中の（　ア　）～（　オ　）に当てはまる最も適切な語句や数の正しい組合せを選びなさい。ただし，同じ記号には同じ語句が入る。

《資料》

<table>
<tr><th>事項</th><th>内容</th><th>結果</th></tr>
<tr><td>（　ア　）の先議</td><td colspan="2">（　ア　）は衆議院が先に審議する</td></tr>
<tr><td>（　ア　）の議決</td><td rowspan="3">①　衆議院と参議院とで異なる議決をし，必ず開かれる（　ウ　）でも不一致の場合
②　参議院が，衆議院の可決した議案を受け取って30日以内（（　イ　）の指名は10日以内）に議決しない場合</td><td rowspan="3">衆議院の議決が国会の議決となる</td></tr>
<tr><td>条約の承認</td></tr>
<tr><td>（　イ　）の指名</td></tr>
<tr><td>法律案の議決</td><td>①　衆議院で可決し参議院でそれと異なる議決をした場合
②　参議院が，衆議院の可決した法律案を受け取って（　エ　）日以内に議決しない場合</td><td>衆議院で出席議員の３分の２以上の多数で再可決すれば法律となる</td></tr>
<tr><td>（　オ　）の決議</td><td colspan="2">（　オ　）の決議は衆議院のみで行うことができる</td></tr>
</table>

	ア	イ	ウ	エ	オ
①	予算	国務大臣	両院協議会	60	内閣不信任
②	予算	内閣総理大臣	両院協議会	60	内閣不信任
③	政令	内閣総理大臣	公聴会	50	内閣総理大臣の問責
④	政令	国務大臣	公聴会	50	内閣不信任
⑤	予算	内閣総理大臣	両院協議会	50	内閣総理大臣の問責

問18　次の《ノート》は，ちはるさんが金融政策についてまとめたものである。《ノート》中の（　ア　）～（　オ　）に当てはまる最も適切な語句の正しい組合せを選びなさい。

《ノート》

物価の変動をおさえて，景気を安定させるために，日本銀行は金融政策を行います。日本銀行は，景気を安定させる方法として公開市場操作（オペレーション）を使っています。

公開市場操作（オペレーション）を図にしたもの

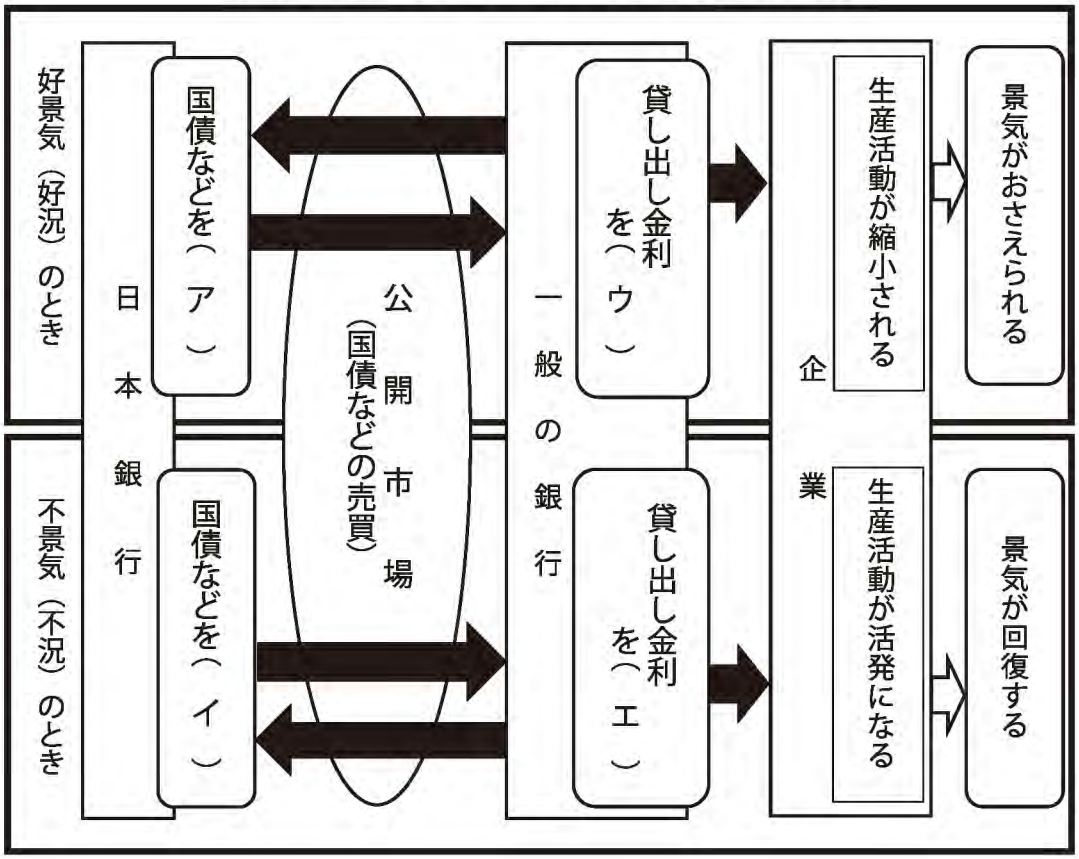

かつては，日本銀行が一般の銀行にお金を貸し出すときの金利である（　オ　）を直接上げ下げすることが金融政策の基本的な手段でしたが，現在は公開市場操作（オペレーション）が主に用いられています。

	ア	イ	ウ	エ	オ
①	売る	買う	下げる	上げる	預金準備率
②	売る	買う	上げる	下げる	預金準備率
③	買う	売る	下げる	上げる	公定歩合
④	買う	売る	上げる	下げる	預金準備率
⑤	売る	買う	上げる	下げる	公定歩合

問19　次の《会話文》は，「日本の農業」というテーマで，つばささんと，みつきさんが話している場面である。《会話文》中の（　ア　）～（　エ　）に当てはまる最も適切な語句の組合せを選びなさい。

《会話文》

つばさ：日本の農業には，従事している人が減少していることや，後継者不足といった問題があるね。

みつき：2018年に調印・発効した（　ア　）協定などにより，農作物などの関税が削減・撤廃され，日本の農業は大きな打撃を受けるという指摘があるよ。

つばさ：食料安全保障の観点から農業は重要だね。

みつき：それに加えて，1999年に制定された（　イ　）の基本理念の一つである「農業の有する多面的機能の発揮」についても忘れてはいけないよ。

つばさ：農業を魅力ある産業にするために，どのようなことが行われているのかな。

みつき：農業を機械化したり経営規模を拡大したりすることが行われているよ。また，付加価値を高めるために，生産・加工・販売を一体化して事業を行う（　ウ　）が試みられているよ。

つばさ：他にもいろいろな試みが行われているね。

みつき：地域の伝統的な食文化や食材を守るスローフードの運動や，緑豊かな農村地域において，自然や文化，人々との交流を楽しむ，滞在型の余暇活動である（　エ　）が取り組まれているよ。

	ア	イ	ウ	エ
①	ＴＰＰ11	農地法	六次産業化	フィンテック
②	ＴＰＰ11	食料・農業・農村基本法	六次産業化	グリーン・ツーリズム
③	ＴＰＰ11	食料・農業・農村基本法	スマートグリッド	グリーン・ツーリズム
④	ＣＯＰ21	食料・農業・農村基本法	スマートグリッド	フィンテック
⑤	ＣＯＰ21	農地法	スマートグリッド	グリーン・ツーリズム

問20　次の《資料》中のア～エは，それぞれヨーロッパ連合（ＥＵ），東南アジア諸国連合（ＡＳＥＡＮ），米国・メキシコ・カナダ協定（ＵＳＭＣＡ），南米南部共同市場（ＭＥＲＣＯＳＵＲ）の人口，ＧＤＰ，貿易額について示したものである。ア，ウに当てはまる正しい組合せを選びなさい。

《資料》　（2022年）

	人口（百万人）	ＧＤＰ（億ドル）	貿易額（億ドル）	
			輸出	輸入
ア	680	36,274	19,595	18,765
イ	504	293,454	32,419	45,816
ウ	447	167,268	71,769	74,916
エ	312	28,374	4,621	4,258

（「世界国勢図会2024/25」から作成）

	ア	ウ
①	東南アジア諸国連合（ＡＳＥＡＮ）	米国・メキシコ・カナダ協定（ＵＳＭＣＡ）
②	南米南部共同市場（ＭＥＲＣＯＳＵＲ）	米国・メキシコ・カナダ協定（ＵＳＭＣＡ）
③	ヨーロッパ連合（ＥＵ）	南米南部共同市場（ＭＥＲＣＯＳＵＲ）
④	南米南部共同市場（ＭＥＲＣＯＳＵＲ）	ヨーロッパ連合（ＥＵ）
⑤	東南アジア諸国連合（ＡＳＥＡＮ）	ヨーロッパ連合（ＥＵ）

※以下の問題は記述問題とする。
次の 問21 ～ 問24 の解答は，全て「解答用紙（記述用）」に記入しなさい。

問21　次の⑴，⑵の各問いに答えなさい。

⑴　次の文は，中学校学習指導要領解説社会編（平成29年文部科学省）「第２章　社会科の目標及び内容」「第２節　各分野の目標及び内容」「１　地理的分野の目標，内容及び内容の取扱い」「⑴　目標」の一部を抜粋したものである。文中の（　a　），（　b　）に当てはまる語句を答えなさい。ただし，同じ記号には同じ語句が入る。

　地理的分野において養われる思考力，判断力とは，社会的事象の地理的な見方・考え方を用いて，地理に関わる事象の意味や意義，特色や相互の関連を多面的・多角的に考察する力，地理的な課題を把握して，解決に向けて学習したことを基に複数の立場や意見を踏まえて選択・判断できる力を意味している。
　位置や（　a　），場所，人間と自然環境との（　b　）関係，空間的（　b　）作用，地域などについては，社会的事象を「地理に関わる事象」として捉える際の，社会に見られる課題を「地理的な課題」として考察する際の視点である。よって，それらの視点に着目することで，社会的事象を地理に関わる事象，すなわち地理的な事象として見いだしたり，社会に見られる課題を「地理的な課題」として考察したりすることを可能にするものである。

⑵　次の文は，中学校学習指導要領（平成29年３月告示）「第２章　各教科」「第２節　社会」「第２　各分野の目標及び内容」〔公民的分野〕「２　内容」「Ａ　私たちと現代社会」の一部を抜粋したものである。文中の（　c　）～（　e　）に当てはまる語句を答えなさい。ただし，同じ記号には同じ語句が入る。

⑵　現代社会を捉える枠組み
　対立と（　c　），効率と公正などに着目して，課題を追究したり解決したりする活動を通して，次の事項を身に付けることができるよう指導する。
ア　次のような知識を身に付けること。
　(ア)　現代社会の見方・考え方の基礎となる枠組みとして，対立と（　c　），効率と公正などについて理解すること。
　(イ)　人間は本来社会的存在であることを基に，（　d　）と両性の本質的平等，（　e　）の重要性やそれを守ることの意義及び個人の責任について理解すること。
イ　次のような思考力，判断力，表現力等を身に付けること。
　(ア)　社会生活における物事の決定の仕方，（　e　）を通した個人と社会との関係，きまりの役割について多面的・多角的に考察し，表現すること。

問22　次の《会話文》は，東京に住んでいるひかるさんと，世界のある都市に住んでいるあすかさんが電話で話をしている場面である。あすかさんが住んでいる都市を《略地図》中のア～カから一つ選び，記号で答えなさい。

《会話文》

ひかる：こんにちは，元気にしていますか。
　　こちらは午後４時で，学校から帰ってきたところなんだ。
　　今，何をしているのかな。
あすか：こちらは午後11時になったところで，寝る準備をしていたところだよ。
　　今度，日本に遊びに行こうと思っているんだ。
ひかる：そうなんだ。今度会えるのを楽しみにしておくね。

《略地図》

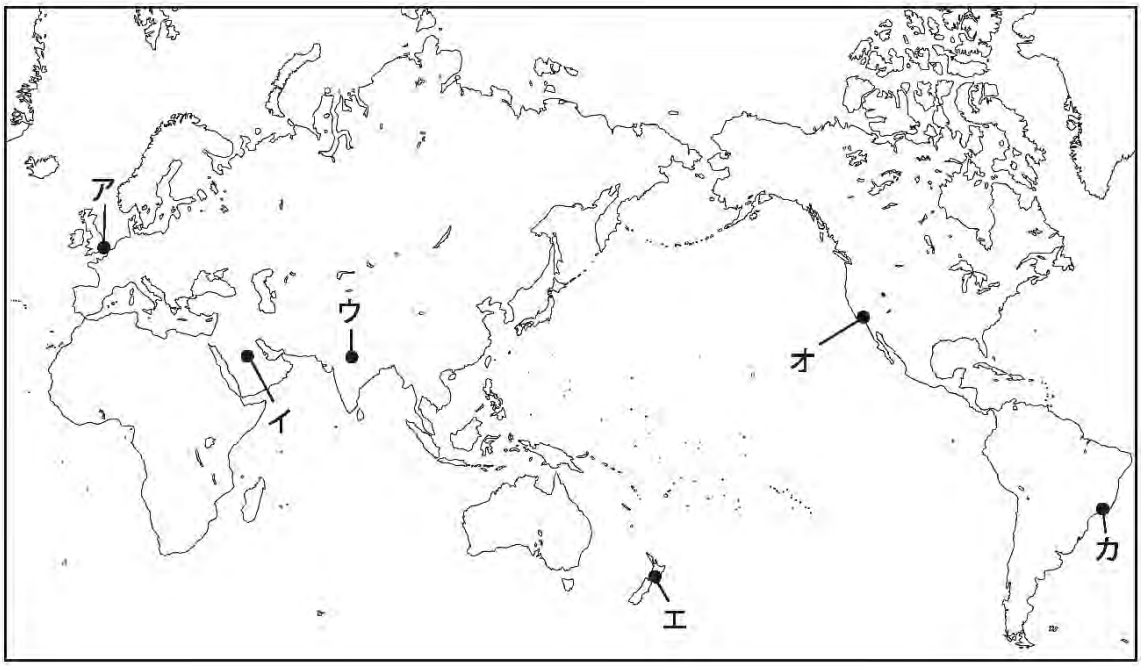

問23　次の各文は，古代のギリシアとローマの政治について述べたものである。各文の下線部ａ～ｇのうち，誤っているものを三つ選び記号で答え，それぞれの正しい語句や人名を答えなさい。

紀元前６世紀初め，ａソロンが貴族と平民の対立の調停にのりだし，血統ではなく財産額の大小によって市民の参政権を定めるとともに，負債を帳消しにし，借財を負った市民を奴隷として売ることを禁止した。

紀元前508年に，アテネの指導者となったｂクレイステネスは，血縁にもとづく旧来の４部族制を，地縁共同体である区（デーモス）にもとづく10部族制に改める改革をおこない，民主政の基礎を築いた。また，僭主の出現を防ぐためにｃ科挙の制度がつくられた。

成年男性市民の全体集会であるｄ民会が多数決で国家の政策を決定し，将軍など一部を除き，一般市民から抽選された役人が行政を担当するなど，紀元前５世紀半ば頃に，将軍ｅカエサルの指導のもとで民主政が実現された。

紀元前367年に，リキニウス・セクスティウス法により執政官職が平民にも開放されるようになった。紀元前287年には，ｆホルテンシウス法により，平民会の決議が元老院の許可なしに全ローマ人の国法となることが定められ，平民の権利が尊重されるようになった。

紀元前27年に，元老院からｇツァーリの称号を贈られたオクタウィアヌスは，元老院など共和政の伝統を尊重し，市民のなかの第一人者（プリンケプス）と自称したが，事実上はほとんど全ての要職を兼任して，全政治権力を自分のものとした。

問24　次の《資料Ⅰ》,《資料Ⅱ》は，のぞみさんが租税について調べて作成したものである。《資料Ⅰ》,《資料Ⅱ》をみて，⑴，⑵，⑶の各問いに答えなさい。

《資料Ⅰ》主な租税の種類

		（　ア　）	（　イ　）
（　ウ　）		所得税 法人税 相続税 贈与税	消費税 酒税 揮発油税 関税 たばこ税
（　エ　）	（都）道府県税	（都）道府県民税 事業税 自動車税	地方消費税 （都）道府県たばこ税 ゴルフ場利用税
	市（区）町村税	市（区）町村民税 固定資産税 軽自動車税	市（区）町村たばこ税 入湯税

納税者と負担者が一致する（　ア　）と，納税者と負担者が異なる（　イ　）に分けられる。また，納付先による区分として，（　ウ　）と（　エ　）がある。

《資料Ⅱ》租税の基本原則

公平の原則	（　a　）の原則	簡素の原則
（　A　）負担を求める「水平的公平」と，（　B　）負担を求める「垂直的公平」がある。	税制が家計や企業の経済活動における選択に影響を与えないようにする。	税制の仕組みを簡素にし，納税者が理解しやすいものにする。

⑴ 《資料Ⅰ》中の（　ア　）～（　エ　）に当てはまる語句を，（　ア　），（　イ　），（　エ　）は漢字３文字で，（　ウ　）は漢字２文字で答えなさい。ただし，同じ記号には同じ語句が入る。

⑵ 《資料Ⅱ》中の（　a　）に当てはまる語句を答えなさい。

⑶ 《資料Ⅱ》中の（　A　），（　B　）に当てはまる内容を，それぞれ「所得」の語句を使って書きなさい。

解答用紙（記述用）

社　会	2の1

（令和８年度）

受験番号	氏　　名
第　　番	

問21

	語句
(1)	a
	b
(2)	c
	d
	e

問22

記号	

問23

記号	語句や人名

解答用紙（記述用）

社　会	2の2

（令和８年度）

受験番号	氏　　名
第　　番	

問24

(1)	ア
	イ
	ウ
	エ
(2)	
(3)	A
	B

令和８年度福岡県公立学校教員採用候補者選考試験　解答及び配点

教科・科目：　中学校社会科

	解　答	配　点		解　答	配　点
問１	③	5	問21	記述	15
問２	⑤	5	問22	記述	5
問３	④	5	問23	記述	15
問４	①	5	問24	記述	15
問５	⑤	5			
問６	⑤	5			
問７	④	5			
問８	⑤	5			
問９	③	5			
問10	⑤	5			
問11	②	5			
問12	②	5			
問13	③	5			
問14	①	5			
問15	③	5			
問16	③	5			
問17	②	5			
問18	⑤	5			
問19	②	5			
問20	⑤	5			

解答用紙（記述用）

社　会	２の１

（令和８年度）

受験番号	氏　名
第　　番	

問 21

		語句	
（１）	a	分布	3
	b	相互依存	3
（２）	c	合意	3
	d	個人の尊厳	3
	e	契約	3

問 22

記号	オ	5

問 23

記号	語句や人名		
c	陶片追放（オストラキスモス）	両解	5
e	ペリクレス	両解	5
g	アウグストゥス（尊厳者）	両解	5

解答用紙（記述用）

社　会	２の２

（令和８年度）

受験番号	氏　名
第　　番	

問 24

（１）	ア　直接税　【漢字３文字】	1
	イ　間接税　【漢字３文字】	1
	ウ　国税　【漢字２文字】	1
	エ　地方税　【漢字３文字】	1
（２）	中立	3
（３）	A　同程度の所得を得ている人には同程度の	4
	B　所得の大きい人により大きい	4