# 令和８年度

# 福岡県公立学校教員

# 採用候補者選考試験問題

# 中　学　校　社　会

1　中学校社会の問題は下記のとおりです。
　　択一問題　問 1 ～問20
　　記述問題　問21 ～問24

2　択一問題は，全て「ＯＣＲ解答用紙」に記入してください。

3　記述問題は，全て「解答用紙（記述用）」に記入してください。

問１ ～ 問20 の解答は，全て [　　] の①～⑤から一つ選び，その番号を「ＯＣＲ解答用紙」にマークしなさい。

問１　次の文は，中学校学習指導要領解説社会編（平成29年文部科学省）「第２章　社会科の目標及び内容」「第１節　教科の目標」の一部を抜粋したものである。文中の（　ア　）～（　オ　）に当てはまる語句の正しい組合せを選びなさい。ただし，同じ記号には同じ語句が入る。

⑴　我が国の国土と歴史，現代の政治，経済，国際関係等に関して理解するとともに，調査や諸資料から様々な情報を効果的に調べ（　ア　）技能を身に付けるようにする。

我が国の国土と歴史，現代の政治，経済，国際関係等については，中学校社会科で扱う学習対象を示し，それらに関して理解するとは，単に知識を身に付けることではなく，基礎的・基本的な知識を確実に習得しながら，既得の知識と関連付けたり（　イ　）たりしていくことにより，学習内容の深い理解と，個別の知識の定着を図るとともに，社会における様々な場面で活用できる，（　ウ　）などに関する知識として獲得していくことをも示している。

調査や諸資料から様々な情報を効果的に調べ（　ア　）技能を身に付けるについては，調査活動や諸資料の活用など手段を考えて課題の解決に必要な社会的事象に関する情報を（　エ　）する技能，（　エ　）した情報を社会的な見方・考え方を働かせて読み取る技能，読み取った情報を課題解決に向けて（　ア　）技能を身に付けることを意味している。

これらの技能は，単元など内容や時間のまとまりごとに全てを身に付けようとするものではなく，資料の特性等とともに情報を（　エ　）する手段やその内容に応じて様々な技能や留意すべき点が存在すると考えられる。そのため，小学校の社会科での学習を踏まえるとともに，高等学校の地理歴史科，公民科での学習を視野に，中学校社会科の学習において生徒が身に付けることが目指される技能を（　オ　）し，その習熟を図るように指導することが大切である。

| | ア | イ | ウ | エ | オ |
|---|---|---|---|---|---|
| ① | まとめる | 組み合わせ | 概念 | 整理 | 効果的に活用 |
| ② | 分析する | 比較し | 概念 | 収集 | 効果的に活用 |
| ③ | まとめる | 組み合わせ | 概念 | 収集 | 繰り返し活用 |
| ④ | 分析する | 組み合わせ | 観念 | 整理 | 繰り返し活用 |
| ⑤ | まとめる | 比較し | 観念 | 収集 | 効果的に活用 |

問２　次の文は，中学校学習指導要領解説社会編（平成29年文部科学省）「第２章　社会科の目標及び内容」「第２節　各分野の目標及び内容」「２　歴史的分野の目標，内容及び内容の取扱い」「⑵　内容」「Ｂ　近世までの日本とアジア」の一部を抜粋したものである。文中の（　Ａ　）～（　Ｅ　）に当てはまる語句の正しい組合せを選びなさい。ただし，同じ記号には同じ語句が入る。

⑴　古代までの日本

課題を追究したり解決したりする活動を通して，次の事項を身に付けることができるよう指導する。

ア　次のような知識を身に付けること。

㈠　世界の古代文明や宗教のおこり

㈡　日本列島における国家形成

㈢　律令国家の形成

㈣　古代の文化と東アジアとの関わり

イ　次のような思考力，判断力，表現力等を身に付けること。

㈠　古代文明や宗教が起こった場所や環境，農耕の広まりや生産技術の発展，東アジアとの接触や交流と政治や文化の変化などに着目して，事象を相互に関連付けるなどして，アの㈠から㈣までについて古代の社会の変化の様子を多面的・多角的に考察し，表現すること。

㈡　古代までの日本を（　Ａ　）して，時代の特色を多面的・多角的に考察し，表現すること。

アの㈠から㈣までの事項を学習するに当たっては，生徒の学習への動機付けや（　Ｂ　）を促しつつ，イの㈠の「古代文明や宗教が起こった場所や環境」，「農耕の広まりや生産技術の発展」，「東アジアとの接触や交流と政治や文化の変化」などに着目して，例えば，「本格的な稲作の広まりによって社会はどのように変化したのだろうか」，「中国をはじめとする東アジアとの交流は，日本の文化にどのような影響を与えたのだろうか」などの課題（問い）を設定することで，社会的事象の歴史的な見方・考え方を働かせて，その課題について，多面的・多角的に考察，表現できるようにすることが大切である。

イの㈡の（　Ａ　）して，時代の特色を多面的・多角的に考察し，表現することとは，「我が国の歴史の大きな流れ」を「各時代の特色を踏まえて理解する」という歴史的分野の学習の基本的なねらいを踏まえ，各中項目のまとめとして位置付けたものである。各時代の特色を大きく捉え，政治の展開，産業の発達，社会の様子，文化の特色など他の時代との（　Ｃ　）に着目して，学習した内容を比較したり関連付けたりするなどして，その結果を言葉や図などで表したり，互いに意見交換したりする活動を示している。

このような活動によって，「思考力，判断力，表現力等」を養うとともに，各時代の特色を生徒が（　Ｄ　）で表現できるような「（　Ｅ　）と定着を図る」（内容の取扱い⑴ウ）ことが求められる。

| | A | B | C | D | E |
|---|---|---|---|---|---|
| ① | 大観 | 見通し | 共通点や相違点 | 適切な方法 | 言語能力の育成 |
| ② | 注視 | 主体性 | 共通点や相違点 | 適切な方法 | 言語能力の育成 |
| ③ | 注視 | 見通し | 関係性や類似性 | 適切な方法 | 確かな理解 |
| ④ | 大観 | 主体性 | 関係性や類似性 | 自分の言葉 | 確かな理解 |
| ⑤ | 大観 | 見通し | 共通点や相違点 | 自分の言葉 | 確かな理解 |

問３　次の文は，中学校学習指導要領解説社会編（平成29年文部科学省）「第３章　指導計画の作成と内容の取扱い」「２　内容の取扱いについての配慮事項」の一部を抜粋したものである。文中の（　ア　）～（　エ　）に当てはまる語句の正しい組合せを選びなさい。ただし，同じ記号には同じ語句が入る。

> ⑷　社会的事象については，生徒の考えが深まるよう様々な見解を提示するよう配慮し，多様な見解のある事柄，（　ア　）な事柄を取り上げる場合には，有益適切な教材に基づいて指導するとともに，特定の事柄を強調し過ぎたり，一面的な見解を十分な配慮なく取り上げたりするなどの偏った取扱いにより，生徒が多面的・多角的に考察したり，事実を客観的に捉え，（　イ　）したりすることを妨げることのないよう留意すること。

これは，各分野の指導において，社会的事象について多面的・多角的に考察したり，事実を客観的に捉え，（　イ　）したりすることのできる生徒の育成を目指す際の留意点を示したものである。

社会科の目標に規定されている「グローバル化する国際社会に主体的に生きる平和で民主的な国家及び社会の形成者に必要な公民としての資質・能力の基礎」を育成することに向けて，「多様な見解のある事柄，（　ア　）な事柄」なども含む現実の課題に関する社会的事象を取り扱うことは，生徒が現実の社会の在り方について具体的に考察，（　ウ　）したり，国民主権を担う公民としての自覚などを深めたりするために効果的である。一方，これらの社会的事象について，一面的な見解を十分な配慮なく取り上げた場合，ともすると恣意的な考察や判断に陥る恐れがあるため，このような規定を設けている。

「多様な見解のある事柄，（　ア　）な事柄」については，一つの見解が絶対的に正しく，他の見解は誤りであると断定することは困難であるとともに，一般に，とりわけ政治においては自分の意見をもちながら議論を交わし（　エ　）を図っていくことが重要であるから，公民的分野のみならず，地理的分野及び歴史的分野の学習においても，一つの結論を出すよりも結論に至るまでの冷静で理性的な議論の過程が大切であることを理解できるように指導し，全体として社会科の目標が実現されるように配慮することが必要である。

| | ア | イ | ウ | エ |
|---|---|---|---|---|
| ① | 限定的 | 公平に選択 | 構想 | 意思決定 |
| ② | 未確定 | 公平に選択 | 検討 | 意思決定 |
| ③ | 未確定 | 公正に判断 | 検討 | 意思決定 |
| ④ | 未確定 | 公正に判断 | 構想 | 合意形成 |
| ⑤ | 限定的 | 公正に判断 | 構想 | 合意形成 |

※　次の略地図を見て，問４～５に答えなさい。ただし，各略地図の縮尺は同じではない。

《略地図》

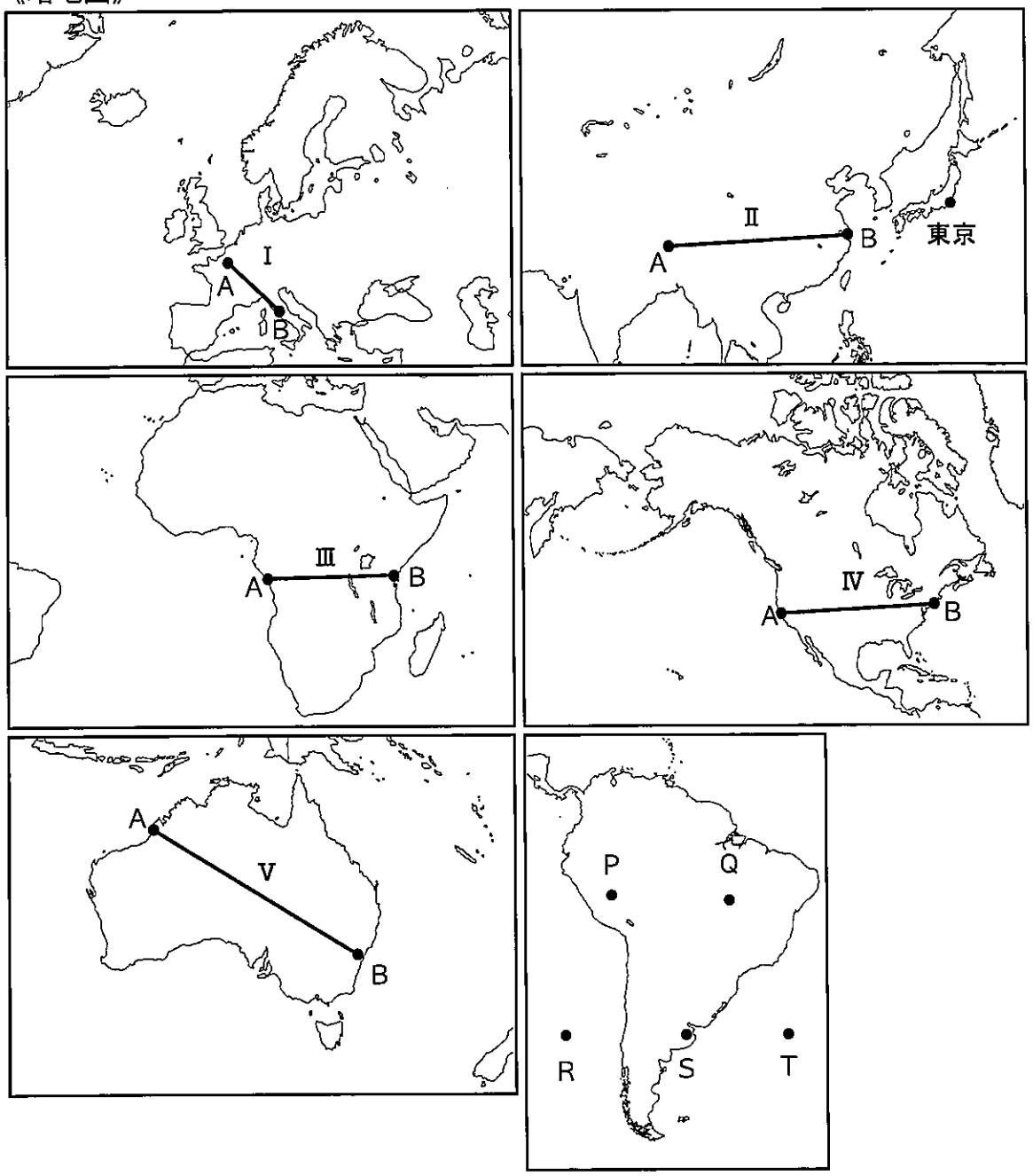

問４　略地図中Ⅰ～Ⅴの線は，ある２都市間を結んだものである。これらの線で切った《断面図》として正しい組合せを選びなさい。

《断面図》

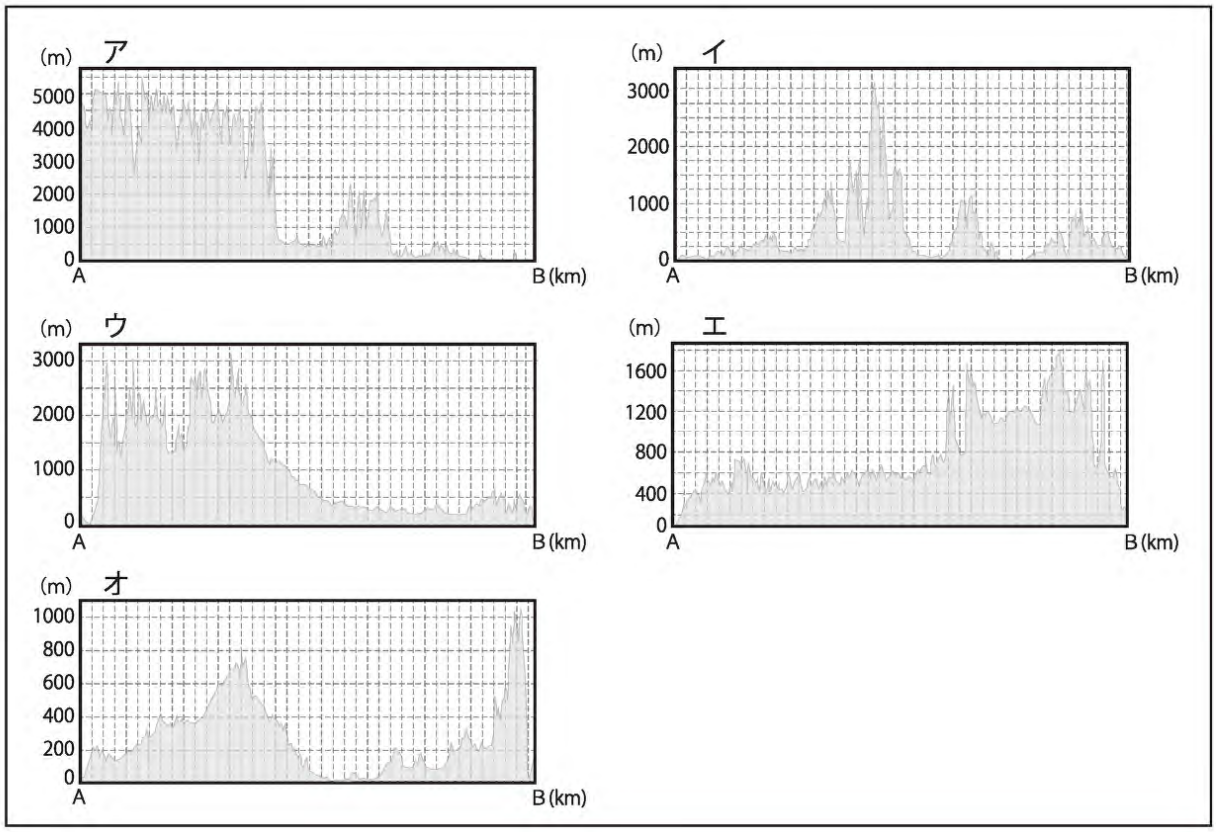


（国土地理院ＨＰから作成）

| | Ⅰ | Ⅱ | Ⅲ | Ⅳ | Ⅴ |
|---|---|---|---|---|---|
| ① | イ | ア | エ | ウ | オ |
| ② | エ | ア | イ | ウ | オ |
| ③ | エ | オ | イ | ア | ウ |
| ④ | イ | ア | エ | オ | ウ |
| ⑤ | イ | エ | ア | オ | ウ |

問５　略地図中Ｐ～Ｔのうち，東京の対蹠点として最も適切なものを選びなさい。

| | |
|---|---|
| ① | P |
| ② | Q |
| ③ | R |
| ④ | S |
| ⑤ | T |

※　次の略地図を見て，問６に答えなさい。

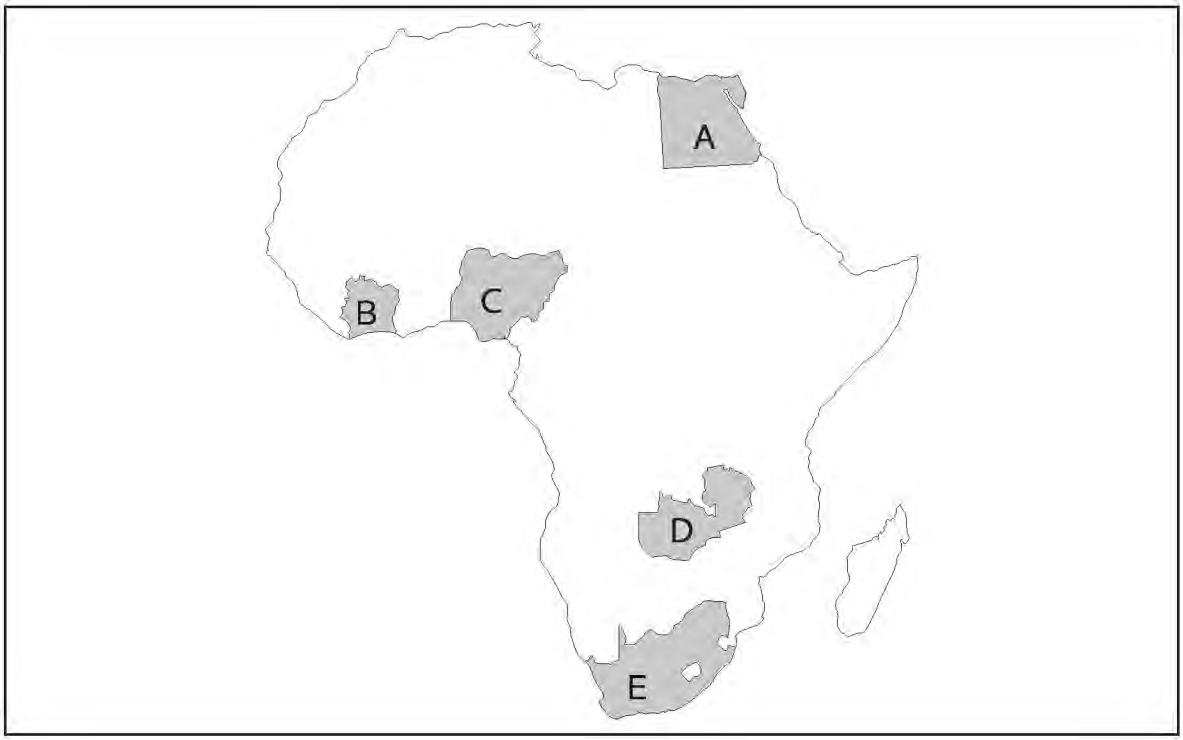


問６　次の《資料》中のア～オは，略地図中Ａ～Ｅの国のいずれかを示している。Ａ～Ｅに当てはまる国の正しい組合せを選びなさい。

《資料》

| | 人口（千人）<br>2023年 | 1人あたりＧＮＩ（ドル）<br>2022年 | おもな輸出品<br>2022年 |
|---|---|---|---|
| ア | 223,805 | 1,998 | 原油・液化天然ガス |
| イ | 60,414 | 6,615 | プラチナ・石炭 |
| ウ | 112,717 | 3,566 | 液化天然ガス・石油製品 |
| エ | 20,570 | 1,349 | 銅・鉄鋼 |
| オ | 28,873 | 2,409 | カカオ豆・石油製品 |

（「世界国勢図会2024/25」から作成）

| | A | B | C | D | E |
|---|---|---|---|---|---|
| ① | ウ | オ | ア | イ | エ |
| ② | ウ | イ | ア | エ | オ |
| ③ | エ | イ | ウ | ア | オ |
| ④ | エ | オ | ウ | ア | イ |
| ⑤ | ウ | オ | ア | エ | イ |

問７　次の《会話文》は，るいさんと，ひなたさんが《写真Ⅰ》と《写真Ⅱ》を見て話している場面である。《会話文》中の（　A　），（　B　）に当てはまる語句の正しい組合せを選びなさい。

《会話文》

るい　：今日は海岸の地形について学習したね。
ひなた：《写真Ⅰ》では，沖合の島と海岸を結び付けるように伸びた砂州が分かるね。これを（　A　）と言うよ。
るい　：《写真Ⅱ》では，（　B　）と呼ばれる，砂州などで外海と隔てられた水域がみられるよ。
ひなた：このほかにも様々な地形があるみたいだ。これからも調べてみよう。

《写真Ⅰ》

《写真Ⅱ》

| | A | B |
|---|---|---|
| ① | トンボロ | ドリーネ |
| ② | ラグーン | トンボロ |
| ③ | モレーン | ドリーネ |
| ④ | トンボロ | ラグーン |
| ⑤ | モレーン | ラグーン |

※　次の略地図を見て，問８に答えなさい。

問８　次の《資料》中のア～オは略地図中Ａ～Ｅのいずれかの府県を示している。Ａ～Ｅに当てはまる府県の正しい組合せを選びなさい。

《資料》

| | 乗用車の100世帯あたり保有台数（台）2022年度 | 社会増減率（%）2021 ～ 22年 | 民営事業所数 2021年 | 宿泊施設での延べ外国人宿泊者数（千人泊）2022年 |
|---|---|---|---|---|
| ア | 113.5 | −0.19 | 59,710 | 33 |
| イ | 68.0 | 0.36 | 285,325 | 509 |
| ウ | 80.2 | 0.16 | 110,564 | 1,413 |
| エ | 62.7 | 0.26 | 384,332 | 2,130 |
| オ | 125.9 | 0.16 | 95,305 | 66 |

（「データで見る県勢2024」から作成）

| | A | B | C | D | E |
|---|---|---|---|---|---|
| ① | オ | イ | ウ | ア | エ |
| ② | オ | ア | ウ | エ | イ |
| ③ | ウ | イ | エ | オ | ア |
| ④ | ウ | ア | エ | オ | イ |
| ⑤ | オ | イ | ウ | エ | ア |

問９　次の《資料Ⅰ》～《資料Ⅲ》中のア～クは九州地方各県のいずれかを示している。《資料Ⅰ》は製造品出荷額等とその内訳，《資料Ⅱ》は農業産出額，《資料Ⅲ》は耕地率と耕地面積を示している。ウ，オに当たる県の組合せとして正しいものを選びなさい。ただし，同じ記号には同じ県が入る。

《資料Ⅰ》製造品出荷額等とその内訳（2021年）

《資料Ⅱ》農業産出額（2021年）

| | （億円） |
|---|---|
| ア | 1,206 |
| イ | 3,478 |
| ウ | 3,477 |
| エ | 1,968 |
| オ | 1,551 |
| カ | 922 |
| キ | 1,228 |
| ク | 4,997 |

《資料Ⅲ》耕地率と耕地面積（2022年）

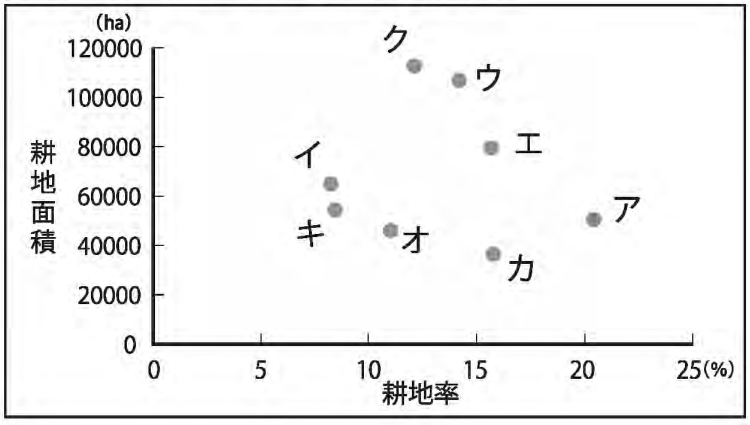


（「データで見る県勢 2024」から作成）

| | ウ | オ |
|---|---|---|
| ① | 熊本県 | 大分県 |
| ② | 宮崎県 | 長崎県 |
| ③ | 熊本県 | 長崎県 |
| ④ | 宮崎県 | 佐賀県 |
| ⑤ | 鹿児島県 | 佐賀県 |

問10　次の各文は，古代における我が国の様子について述べたものである。文中の（　ア　）～（　オ　）に当てはまる最も適切な語句の組合せを選びなさい。

○　５世紀初めから約１世紀近くのあいだ,『宋書』倭国伝に讃・珍・済・興・武と記された倭の五王が冊封を求めて中国の（　ア　）に朝貢した。

○　敏達天皇の后で，最初の女性天皇である推古天皇が飛鳥で即位し，国際的な緊張のもとで大臣の（　イ　）や推古天皇の甥の厩戸王（聖徳太子）らが協力して国家組織の形成を進めた。

○　律令国家では，民衆は戸籍・計帳に登録され，負担が課せられた。（　ウ　）は口分田などの収穫から３％程度の稲をおさめるもので，おもに諸国の各郡におかれた正倉に貯蔵された。

○　最澄は，遣唐使に従って入唐し，帰国したあとに（　エ　）を始め，最澄の開いた比叡山からは，多くの優れた僧が育った。

○　摂政・関白がおかれずに親政がおこなわれた醍醐天皇及び（　オ　）の時代は，のちに「延喜・天暦の治」と称されるようになった。

| | ア | イ | ウ | エ | オ |
|---|---|---|---|---|---|
| ① | 北朝 | 藤原不比等 | 租 | 真言宗 | 後一条天皇 |
| ② | 北朝 | 蘇我馬子 | 調 | 真言宗 | 村上天皇 |
| ③ | 南朝 | 蘇我馬子 | 租 | 真言宗 | 後一条天皇 |
| ④ | 南朝 | 藤原不比等 | 調 | 天台宗 | 村上天皇 |
| ⑤ | 南朝 | 蘇我馬子 | 租 | 天台宗 | 村上天皇 |

問11　次の文は，13世紀から14世紀における東アジアについて述べたものである。文中の下線部ａ～ｅのうち，正しいものを○，誤っているものを×としたとき，正しい組合せを選びなさい。

> モンゴル高原から華北・チベット・朝鮮半島などの地域を勢力基盤としたフビライ＝ハンは，元という中国風の国名を定め，都を$_{a}$長安に移した。1276年に元は$_{b}$南宋を滅ぼし，中国全土の支配を完成させた。
> フビライ＝ハンに仕えたとされるイタリアの商人マルコ＝ポーロの見聞をまとめた旅行記『$_{c}$集史』は，ヨーロッパで大きな反響を呼んだ。
> 14世紀半ばに$_{d}$黄巾の乱をはじめとする反乱が各地でおこり，1368年に元は$_{e}$明軍に$_{a}$長安を奪われて，モンゴル高原に退いた。

| | a | b | c | d | e |
|---|---|---|---|---|---|
| ① | × | × | ○ | ○ | ○ |
| ② | × | ○ | × | × | ○ |
| ③ | × | ○ | × | ○ | × |
| ④ | ○ | × | × | ○ | × |
| ⑤ | ○ | ○ | ○ | × | × |

問12　次の《資料》は，11世紀から15世紀における我が国の主な出来事を左から順に示している。《資料》中の（　ア　）～（　オ　）には，《語群》ａ～ｅのいずれかが入る。（　ア　）～（　オ　）に当てはまる最も適切な組合せを選びなさい。

《資料》

| 時代 | （平安） | | （鎌倉） | | | （室町） | | | | |
|---|---|---|---|---|---|---|---|---|---|---|
| 主な出来事 | （ア） | 平清盛が太政大臣になる<br>保元の乱 | 源頼朝が征夷大将軍になる | （イ）<br>承久の乱 | 弘安の役<br>文永の役 | （ウ） | 足利尊氏が征夷大将軍になる<br>建武の新政 | 足利義満が幕府を室町に移す | （エ） | （オ） | 応仁の乱 |

《語群》

| | |
|---|---|
| a | 正長の徳政一揆 |
| b | 永仁の徳政令 |
| c | 南北朝の統一 |
| d | 白河上皇が院政をはじめる |
| e | 御成敗式目の制定 |

| | ア | イ | ウ | エ | オ |
|---|---|---|---|---|---|
| ① | d | e | a | c | b |
| ② | d | e | b | c | a |
| ③ | e | d | c | b | a |
| ④ | e | d | a | b | c |
| ⑤ | d | e | b | a | c |

問13 《資料》中のａ～ｄは，近世から近代における我が国の政治や外交に関する文書の一部である。ａ～ｄの年代を，古い順に正しく並びかえたものを選びなさい。

《資料》

| | |
|---|---|
| a | 第１条　朝鮮国は自主の国であり，日本国と平等の権利をもつ。<br>第10条　日本国の人民が朝鮮国の貿易港で罪を犯し，朝鮮国の人民と交渉が必要な事件は，すべて日本国の領事が裁判を行う。<br>第11条　両国は，別に通商の決まりを定め，両国の商人の便を図る。<br>（一部要約） |
| b | イギリスに限らず，南蛮や西洋の国は幕府が厳禁しているキリスト教の国であるから，今後はどこの海辺の村においても，外国船が乗り寄せてきたのを見たならば，その村にいる人々で，ためらうことなく，ひたすら撃退し，もし強引に上陸したならばつかまえ，場合によっては討ち取っても差し支えない。<br>（部分要約） |
| c | 一　中国政府は，ドイツが山東省にもっている一切の権益を日本にゆずる。<br>一　日本の旅順・大連の租借の期限，南満州鉄道の期限を99か年延長する。<br>一　中国政府は，南満州・東部内蒙古における鉱山の採掘権を日本国民に与える。<br>（一部要約） |
| d | 第３条　下田・函館のほか，神奈川，長崎，新潟，兵庫を開港すること。…神奈川を開いた６か月後，下田を閉ざすこと。<br>第６条　日本人に対して法を犯したアメリカ人は，アメリカ領事裁判所において取り調べのうえ，アメリカの法律によってばっすること。<br>（部分要約） |

| | |
|---|---|
| ① | b → a → d → c |
| ② | b → d → c → a |
| ③ | b → d → a → c |
| ④ | d → a → b → c |
| ⑤ | d → b → c → a |

問14　次の《会話文》は，あおいさんと，まことさんが《写真》中のａ～ｅを見て人物の業績について会話をしている場面である。《会話文》中の下線部ａ～ｅのうち，正しいものを○，誤っているものを×としたとき，正しい組合せを選びなさい。なお，《写真》中のａ～ｅと《会話文》中の下線部ａ～ｅは対応しているものとする。

《写真》

ａ　一万円札（令和６年７月発行開始）の人物

ｂ　五千円札（令和６年７月発行開始）の人物

ｃ　千円札（令和６年７月発行開始）の人物

ｄ　旧一万円札（平成16年11月発行開始）の人物

ｅ　旧五千円札（平成16年11月発行開始）の人物

《会話文》

あおい：お札に肖像として描かれた人物を調べると，一万円札は，a第一国立銀行や大阪紡績会社など多くの企業の設立・経営に関わり，産業の発展に力を尽くした人物だね。

まこと：五千円札は，b岩倉使節団に同行し，後に女子英学塾をつくって女子教育に生涯をささげた人物だね。

あおい：また，千円札は，cドイツ留学中にタカジアスターゼを発明し，アドレナリンの抽出に成功して海外で評価される成果をあげた人物だね。

まこと：旧一万円札は，d『民約訳解』を刊行し，国民の考え方を転換させるうえで大きな働きをした人物だね。

あおい：また，旧五千円札は，e詩歌の分野で活躍し，日露戦争に出兵した弟を思って，文芸誌『明星』に「君死にたまふこと勿れ」とうたう反戦詩を発表した人物だね。

| | a | b | c | d | e |
|---|---|---|---|---|---|
| ① | ○ | ○ | × | × | × |
| ② | × | × | × | ○ | ○ |
| ③ | ○ | ○ | ○ | ○ | × |
| ④ | × | ○ | × | × | ○ |
| ⑤ | ○ | × | ○ | × | × |

問15　次のａ～ｅの各文は，1950年以降の我が国の様子を述べたものである。ａ～ｅの出来事を古い順に並べたとき，古い方から２番目と４番目に当たる正しい組合せを選びなさい。

| | |
|---|---|
| a | 循環型社会形成推進基本法が制定された。 |
| b | テレビ放送が開始された。 |
| c | 地球温暖化防止京都会議が開かれ，京都議定書が採択された。 |
| d | 環境庁が設置された。 |
| e | 東海道新幹線が開通した。 |

| | ２番目 | ４番目 |
|---|---|---|
| ① | b | a |
| ② | b | c |
| ③ | e | c |
| ④ | e | d |
| ⑤ | e | a |

問16　次のア～エの各文は，日本国憲法について述べたものである。正しいものを○，誤っているものを×としたとき，正しい組合せを選びなさい。

| | |
|---|---|
| ア | 職業選択の自由や財産権の保障，居住・移転の自由といった，経済活動の自由を保障している。 |
| イ | ひとつの地方公共団体のみに適用される特別法を国会が制定するためには，その地方公共団体の住民の投票においてその３分の２以上の同意を得なければ，制定することができない。 |
| ウ | 団結権や団体交渉権，団体行動権（争議権）を保障している。 |
| エ | 国民は，納税の義務，教育を受ける義務，勤労の義務を負うことが定められている。 |

| | ア | イ | ウ | エ |
|---|---|---|---|---|
| ① | ○ | × | × | ○ |
| ② | ○ | ○ | × | × |
| ③ | ○ | × | ○ | × |
| ④ | × | ○ | × | ○ |
| ⑤ | × | × | ○ | × |

問17　次の《資料》は，衆議院の優越について示したものである。《資料》中の（　ア　）～（　オ　）に当てはまる最も適切な語句や数の正しい組合せを選びなさい。ただし，同じ記号には同じ語句が入る。

《資料》

<table>
<tr><th>事項</th><th>内容</th><th>結果</th></tr>
<tr><td>（　ア　）の先議</td><td colspan="2">（　ア　）は衆議院が先に審議する</td></tr>
<tr><td>（　ア　）の議決</td><td rowspan="3">①　衆議院と参議院とで異なる議決をし，必ず開かれる（　ウ　）でも不一致の場合<br>②　参議院が，衆議院の可決した議案を受け取って30日以内（（　イ　）の指名は10日以内）に議決しない場合</td><td rowspan="3">衆議院の議決が国会の議決となる</td></tr>
<tr><td>条約の承認</td></tr>
<tr><td>（　イ　）の指名</td></tr>
<tr><td>法律案の議決</td><td>①　衆議院で可決し参議院でそれと異なる議決をした場合<br>②　参議院が，衆議院の可決した法律案を受け取って（　エ　）日以内に議決しない場合</td><td>衆議院で出席議員の３分の２以上の多数で再可決すれば法律となる</td></tr>
<tr><td>（　オ　）の決議</td><td colspan="2">（　オ　）の決議は衆議院のみで行うことができる</td></tr>
</table>

| | ア | イ | ウ | エ | オ |
|---|---|---|---|---|---|
| ① | 予算 | 国務大臣 | 両院協議会 | 60 | 内閣不信任 |
| ② | 予算 | 内閣総理大臣 | 両院協議会 | 60 | 内閣不信任 |
| ③ | 政令 | 内閣総理大臣 | 公聴会 | 50 | 内閣総理大臣の問責 |
| ④ | 政令 | 国務大臣 | 公聴会 | 50 | 内閣不信任 |
| ⑤ | 予算 | 内閣総理大臣 | 両院協議会 | 50 | 内閣総理大臣の問責 |

問18　次の《ノート》は，ちはるさんが金融政策についてまとめたものである。《ノート》中の（　ア　）～（　オ　）に当てはまる最も適切な語句の正しい組合せを選びなさい。

《ノート》

物価の変動をおさえて，景気を安定させるために，日本銀行は金融政策を行います。日本銀行は，景気を安定させる方法として公開市場操作（オペレーション）を使っています。

公開市場操作（オペレーション）を図にしたもの

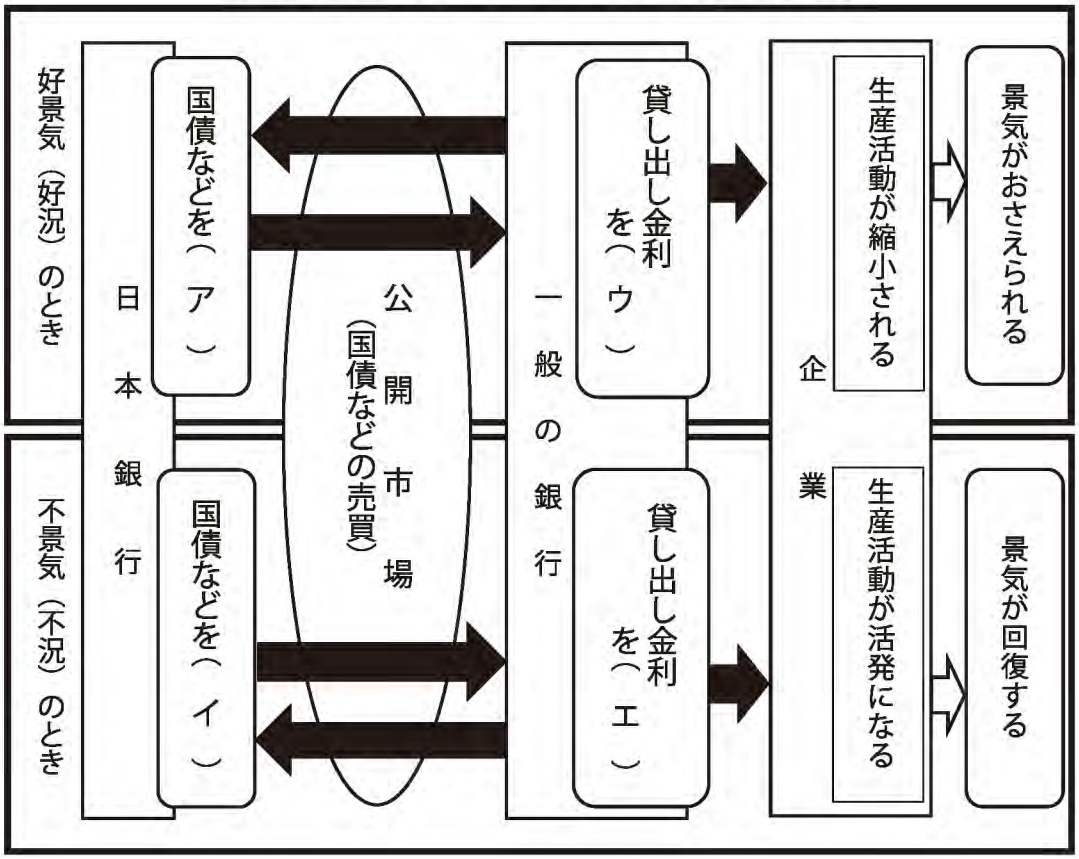


かつては，日本銀行が一般の銀行にお金を貸し出すときの金利である（　オ　）を直接上げ下げすることが金融政策の基本的な手段でしたが，現在は公開市場操作（オペレーション）が主に用いられています。

| | ア | イ | ウ | エ | オ |
|---|---|---|---|---|---|
| ① | 売る | 買う | 下げる | 上げる | 預金準備率 |
| ② | 売る | 買う | 上げる | 下げる | 預金準備率 |
| ③ | 買う | 売る | 下げる | 上げる | 公定歩合 |
| ④ | 買う | 売る | 上げる | 下げる | 預金準備率 |
| ⑤ | 売る | 買う | 上げる | 下げる | 公定歩合 |

問19　次の《会話文》は，「日本の農業」というテーマで，つばささんと，みつきさんが話している場面である。《会話文》中の（　ア　）～（　エ　）に当てはまる最も適切な語句の組合せを選びなさい。

《会話文》

つばさ：日本の農業には，従事している人が減少していることや，後継者不足といった問題があるね。

みつき：2018年に調印・発効した（　ア　）協定などにより，農作物などの関税が削減・撤廃され，日本の農業は大きな打撃を受けるという指摘があるよ。

つばさ：食料安全保障の観点から農業は重要だね。

みつき：それに加えて，1999年に制定された（　イ　）の基本理念の一つである「農業の有する多面的機能の発揮」についても忘れてはいけないよ。

つばさ：農業を魅力ある産業にするために，どのようなことが行われているのかな。

みつき：農業を機械化したり経営規模を拡大したりすることが行われているよ。また，付加価値を高めるために，生産・加工・販売を一体化して事業を行う（　ウ　）が試みられているよ。

つばさ：他にもいろいろな試みが行われているね。

みつき：地域の伝統的な食文化や食材を守るスローフードの運動や，緑豊かな農村地域において，自然や文化，人々との交流を楽しむ，滞在型の余暇活動である（　エ　）が取り組まれているよ。

| | ア | イ | ウ | エ |
|---|---|---|---|---|
| ① | ＴＰＰ11 | 農地法 | 六次産業化 | フィンテック |
| ② | ＴＰＰ11 | 食料・農業・農村基本法 | 六次産業化 | グリーン・ツーリズム |
| ③ | ＴＰＰ11 | 食料・農業・農村基本法 | スマートグリッド | グリーン・ツーリズム |
| ④ | ＣＯＰ21 | 食料・農業・農村基本法 | スマートグリッド | フィンテック |
| ⑤ | ＣＯＰ21 | 農地法 | スマートグリッド | グリーン・ツーリズム |

問20　次の《資料》中のア～エは，それぞれヨーロッパ連合（ＥＵ），東南アジア諸国連合（ＡＳＥＡＮ），米国・メキシコ・カナダ協定（ＵＳＭＣＡ），南米南部共同市場（ＭＥＲＣＯＳＵＲ）の人口，ＧＤＰ，貿易額について示したものである。ア，ウに当てはまる正しい組合せを選びなさい。

《資料》　（2022年）

| | 人口（百万人） | ＧＤＰ（億ドル） | 貿易額（億ドル） | |
|---|---|---|---|---|
| | | | 輸出 | 輸入 |
| ア | 680 | 36,274 | 19,595 | 18,765 |
| イ | 504 | 293,454 | 32,419 | 45,816 |
| ウ | 447 | 167,268 | 71,769 | 74,916 |
| エ | 312 | 28,374 | 4,621 | 4,258 |

（「世界国勢図会2024/25」から作成）

| | ア | ウ |
|---|---|---|
| ① | 東南アジア諸国連合（ＡＳＥＡＮ） | 米国・メキシコ・カナダ協定（ＵＳＭＣＡ） |
| ② | 南米南部共同市場（ＭＥＲＣＯＳＵＲ） | 米国・メキシコ・カナダ協定（ＵＳＭＣＡ） |
| ③ | ヨーロッパ連合（ＥＵ） | 南米南部共同市場（ＭＥＲＣＯＳＵＲ） |
| ④ | 南米南部共同市場（ＭＥＲＣＯＳＵＲ） | ヨーロッパ連合（ＥＵ） |
| ⑤ | 東南アジア諸国連合（ＡＳＥＡＮ） | ヨーロッパ連合（ＥＵ） |

※以下の問題は記述問題とする。
次の 問21 ～ 問24 の解答は，全て「解答用紙（記述用）」に記入しなさい。

問21　次の⑴，⑵の各問いに答えなさい。

⑴　次の文は，中学校学習指導要領解説社会編（平成29年文部科学省）「第２章　社会科の目標及び内容」「第２節　各分野の目標及び内容」「１　地理的分野の目標，内容及び内容の取扱い」「⑴　目標」の一部を抜粋したものである。文中の（　a　），（　b　）に当てはまる語句を答えなさい。ただし，同じ記号には同じ語句が入る。

　地理的分野において養われる思考力，判断力とは，社会的事象の地理的な見方・考え方を用いて，地理に関わる事象の意味や意義，特色や相互の関連を多面的・多角的に考察する力，地理的な課題を把握して，解決に向けて学習したことを基に複数の立場や意見を踏まえて選択・判断できる力を意味している。
　位置や（　a　），場所，人間と自然環境との（　b　）関係，空間的（　b　）作用，地域などについては，社会的事象を「地理に関わる事象」として捉える際の，社会に見られる課題を「地理的な課題」として考察する際の視点である。よって，それらの視点に着目することで，社会的事象を地理に関わる事象，すなわち地理的な事象として見いだしたり，社会に見られる課題を「地理的な課題」として考察したりすることを可能にするものである。

⑵　次の文は，中学校学習指導要領（平成29年３月告示）「第２章　各教科」「第２節　社会」「第２　各分野の目標及び内容」〔公民的分野〕「２　内容」「Ａ　私たちと現代社会」の一部を抜粋したものである。文中の（　c　）～（　e　）に当てはまる語句を答えなさい。ただし，同じ記号には同じ語句が入る。

⑵　現代社会を捉える枠組み
　対立と（　c　），効率と公正などに着目して，課題を追究したり解決したりする活動を通して，次の事項を身に付けることができるよう指導する。
ア　次のような知識を身に付けること。
　(ア)　現代社会の見方・考え方の基礎となる枠組みとして，対立と（　c　），効率と公正などについて理解すること。
　(イ)　人間は本来社会的存在であることを基に，（　d　）と両性の本質的平等，（　e　）の重要性やそれを守ることの意義及び個人の責任について理解すること。
イ　次のような思考力，判断力，表現力等を身に付けること。
　(ア)　社会生活における物事の決定の仕方，（　e　）を通した個人と社会との関係，きまりの役割について多面的・多角的に考察し，表現すること。

問22　次の《会話文》は，東京に住んでいるひかるさんと，世界のある都市に住んでいるあすかさんが電話で話をしている場面である。あすかさんが住んでいる都市を《略地図》中のア～カから一つ選び，記号で答えなさい。

《会話文》

ひかる：こんにちは，元気にしていますか。
　　こちらは午後４時で，学校から帰ってきたところなんだ。
　　今，何をしているのかな。
あすか：こちらは午後11時になったところで，寝る準備をしていたところだよ。
　　今度，日本に遊びに行こうと思っているんだ。
ひかる：そうなんだ。今度会えるのを楽しみにしておくね。

《略地図》

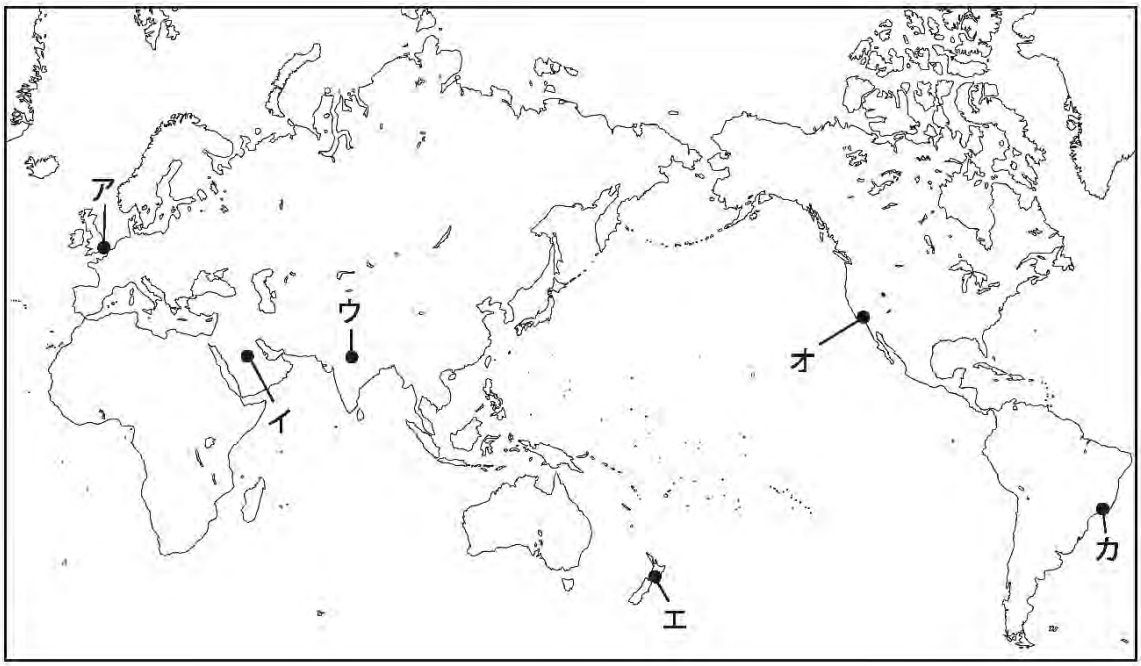

問23　次の各文は，古代のギリシアとローマの政治について述べたものである。各文の下線部ａ～ｇのうち，誤っているものを三つ選び記号で答え，それぞれの正しい語句や人名を答えなさい。

紀元前６世紀初め，ａソロンが貴族と平民の対立の調停にのりだし，血統ではなく財産額の大小によって市民の参政権を定めるとともに，負債を帳消しにし，借財を負った市民を奴隷として売ることを禁止した。

紀元前508年に，アテネの指導者となったｂクレイステネスは，血縁にもとづく旧来の４部族制を，地縁共同体である区（デーモス）にもとづく10部族制に改める改革をおこない，民主政の基礎を築いた。また，僭主の出現を防ぐためにｃ科挙の制度がつくられた。

成年男性市民の全体集会であるｄ民会が多数決で国家の政策を決定し，将軍など一部を除き，一般市民から抽選された役人が行政を担当するなど，紀元前５世紀半ば頃に，将軍ｅカエサルの指導のもとで民主政が実現された。

紀元前367年に，リキニウス・セクスティウス法により執政官職が平民にも開放されるようになった。紀元前287年には，ｆホルテンシウス法により，平民会の決議が元老院の許可なしに全ローマ人の国法となることが定められ，平民の権利が尊重されるようになった。

紀元前27年に，元老院からｇツァーリの称号を贈られたオクタウィアヌスは，元老院など共和政の伝統を尊重し，市民のなかの第一人者（プリンケプス）と自称したが，事実上はほとんど全ての要職を兼任して，全政治権力を自分のものとした。

問24　次の《資料Ⅰ》,《資料Ⅱ》は，のぞみさんが租税について調べて作成したものである。《資料Ⅰ》,《資料Ⅱ》をみて，⑴，⑵，⑶の各問いに答えなさい。

《資料Ⅰ》主な租税の種類

| | | （　ア　） | （　イ　） |
|---|---|---|---|
| （　ウ　） | | 所得税<br>法人税<br>相続税<br>贈与税 | 消費税<br>酒税<br>揮発油税<br>関税<br>たばこ税 |
| （　エ　） | （都）道府県税 | （都）道府県民税<br>事業税<br>自動車税 | 地方消費税<br>（都）道府県たばこ税<br>ゴルフ場利用税 |
| | 市（区）町村税 | 市（区）町村民税<br>固定資産税<br>軽自動車税 | 市（区）町村たばこ税<br>入湯税 |

納税者と負担者が一致する（　ア　）と，納税者と負担者が異なる（　イ　）に分けられる。また，納付先による区分として，（　ウ　）と（　エ　）がある。

《資料Ⅱ》租税の基本原則

| 公平の原則 | （　a　）の原則 | 簡素の原則 |
|---|---|---|
| （　A　）負担を求める「水平的公平」と，（　B　）負担を求める「垂直的公平」がある。 | 税制が家計や企業の経済活動における選択に影響を与えないようにする。 | 税制の仕組みを簡素にし，納税者が理解しやすいものにする。 |

⑴ 《資料Ⅰ》中の（　ア　）～（　エ　）に当てはまる語句を，（　ア　），（　イ　），（　エ　）は漢字３文字で，（　ウ　）は漢字２文字で答えなさい。ただし，同じ記号には同じ語句が入る。

⑵ 《資料Ⅱ》中の（　a　）に当てはまる語句を答えなさい。

⑶ 《資料Ⅱ》中の（　A　），（　B　）に当てはまる内容を，それぞれ「所得」の語句を使って書きなさい。

# 解答用紙（記述用）

| 社　会 | 2の1 |
|---|---|

（令和８年度）

| 受験番号 | 氏　　名 |
|---|---|
| 第　　番 | |

問21

| | 語句 |
|---|---|
| (1) | a |
| | b |
| (2) | c |
| | d |
| | e |

問22

| 記号 | |
|---|---|

問23

| 記号 | 語句や人名 |
|---|---|
| | |
| | |
| | |

# 解答用紙（記述用）

| 社　会 | 2の2 |
|---|---|

（令和８年度）

| 受験番号 | 氏　　名 |
|---|---|
| 第　　番 | |

問24

| | |
|---|---|
| (1) | ア |
| | イ |
| | ウ |
| | エ |
| (2) | |
| (3) | A |
| | B |

# 令和８年度福岡県公立学校教員採用候補者選考試験　解答及び配点

教科・科目：　中学校社会科

| | 解　答 | 配　点 | | 解　答 | 配　点 |
|---|---|---|---|---|---|
| 問１ | ③ | 5 | 問21 | 記述 | 15 |
| 問２ | ⑤ | 5 | 問22 | 記述 | 5 |
| 問３ | ④ | 5 | 問23 | 記述 | 15 |
| 問４ | ① | 5 | 問24 | 記述 | 15 |
| 問５ | ⑤ | 5 | | | |
| 問６ | ⑤ | 5 | | | |
| 問７ | ④ | 5 | | | |
| 問８ | ⑤ | 5 | | | |
| 問９ | ③ | 5 | | | |
| 問10 | ⑤ | 5 | | | |
| 問11 | ② | 5 | | | |
| 問12 | ② | 5 | | | |
| 問13 | ③ | 5 | | | |
| 問14 | ① | 5 | | | |
| 問15 | ③ | 5 | | | |
| 問16 | ③ | 5 | | | |
| 問17 | ② | 5 | | | |
| 問18 | ⑤ | 5 | | | |
| 問19 | ② | 5 | | | |
| 問20 | ⑤ | 5 | | | |

# 解答用紙（記述用）

| 社　会 | ２の１ |
|---|---|

（令和８年度）

| 受験番号 | 氏　名 |
|---|---|
| 第　　番 | |

問 21

| | | 語句 | |
|---|---|---|---|
| （１） | a | 分布 | 3 |
| | b | 相互依存 | 3 |
| （２） | c | 合意 | 3 |
| | d | 個人の尊厳 | 3 |
| | e | 契約 | 3 |

問 22

| 記号 | オ | 5 |
|---|---|---|

問 23

| 記号 | 語句や人名 | | |
|---|---|---|---|
| c | 陶片追放（オストラキスモス） | 両解 | 5 |
| e | ペリクレス | 両解 | 5 |
| g | アウグストゥス（尊厳者） | 両解 | 5 |

# 解答用紙（記述用）

| 社　会 | ２の２ |
|---|---|

（令和８年度）

| 受験番号 | 氏　名 |
|---|---|
| 第　　番 | |

問 24

| | | |
|---|---|---|
| （１） | ア　直接税　【漢字３文字】 | 1 |
| | イ　間接税　【漢字３文字】 | 1 |
| | ウ　国税　【漢字２文字】 | 1 |
| | エ　地方税　【漢字３文字】 | 1 |
| （２） | 中立 | 3 |
| （３） | A　同程度の所得を得ている人には同程度の | 4 |
| | B　所得の大きい人により大きい | 4 |

# 令和８年度

# 福岡県公立学校教員

# 採用候補者選考試験問題

# 高等学校　地理歴史

1　高等学校地理歴史の共通問題は下記のとおりです。受験者全員が解答してください。

　　択一問題　　問１から問10まで

2　高等学校地理歴史の専門問題は下記のとおりです。高等学校地理歴史（歴史）志願者は歴史の問題を，高等学校地理歴史（地理）志願者は地理の問題を選択してください。

（１）歴史

　　択一問題　　問11から問23まで

　　記述問題　　問24から問25まで

（２）地理

　　択一問題　　問26から問38まで

　　記述問題　　問39から問40まで

3　択一問題は，全て「ＯＣＲ解答用紙」に解答してください。

4　記述問題は，全て「解答用紙（記述用）」に解答してください。

※ 問１ ～ 問10 の解答は，全て選択肢から一つ選び，「ＯＣＲ解答用紙」にマークしなさい。

地理歴史（共通）問題

問１　次の文は，高等学校学習指導要領（平成30年３月告示）「地理歴史」の科目「地理総合」の「内容」の一部である。文中のア～ウの空欄に当てはまる語句の正しい組合せを選びなさい。ただし，同じ記号には同じ語句が入る。

> 我が国をはじめ世界で見られる自然災害や生徒の生活圏で見られる自然災害を基に，地域の（　ア　）の特色と自然災害への（　イ　）や対応との関わりとともに，自然災害の規模や頻度，地域性を踏まえた（　イ　）や対応の（　ウ　）などについて理解すること。

| | ア | イ | ウ |
|---|---|---|---|
| ① | 自然環境 | 備　え | 緊急性 |
| ② | 気象条件 | 認　識 | 重要性 |
| ③ | 自然環境 | 備　え | 重要性 |
| ④ | 気象条件 | 備　え | 緊急性 |
| ⑤ | 自然環境 | 認　識 | 緊急性 |

問２　次の文は，高等学校学習指導要領（平成30年３月告示）「地理歴史」の科目「歴史総合」の「内容の取扱い」の一部である。文中のア～ウの空欄に当てはまる語句の正しい組合せを選びなさい。

> この科目では，中学校までの学習との連続性に留意して（　ア　）ことにより，生徒が興味・関心をもって近現代の歴史を学習できるよう指導を工夫すること。その際，近現代の歴史の変化を（　イ　）し，考察，表現できるようにすることに指導の重点を置き，（　ウ　）のみの理解にとどまることのないよう留意すること。

| | ア | イ | ウ |
|---|---|---|---|
| ① | 課題を追究する | 大観して理解 | 歴史の展開 |
| ② | 諸事象を取り上げる | 通観する問いを設定 | 個別の事象 |
| ③ | 課題を追究する | 大観して理解 | 個別の事象 |
| ④ | 諸事象を取り上げる | 大観して理解 | 個別の事象 |
| ⑤ | 課題を追究する | 通観する問いを設定 | 歴史の展開 |

問３　次の文は，高等学校学習指導要領（平成30年３月告示）「地理歴史」の科目「日本史探究」の「内容の取扱い」の一部である。文中のア～ウの空欄に当てはまる語句の正しい組合せを選びなさい。

> 地域社会の歴史と文化について扱うようにするとともに，（　ア　）が地域社会の向上と文化の（　イ　）や発展に努力したことを（　ウ　）させ，それらを尊重する態度を育てるようにすること。

| | ア | イ | ウ |
|---|---|---|---|
| ① | 祖　先 | 変　容 | 具体的に理解 |
| ② | 社会や集団 | 創　造 | 構造的に整理 |
| ③ | 社会や集団 | 変　容 | 構造的に整理 |
| ④ | 祖　先 | 創　造 | 具体的に理解 |
| ⑤ | 社会や集団 | 創　造 | 具体的に理解 |

問４　次の文は，高等学校学習指導要領（平成30年３月告示）「地理歴史」の科目「世界史探究」の「内容の取扱い」の一部である。文中のア～ウの空欄に当てはまる語句の正しい組合せを選びなさい。

> 年表や地図，その他の資料を（　ア　）し，文化遺産，（　イ　）やその他の資料館などの施設を調査・見学するなど，具体的に学ぶよう指導を工夫すること。その際，歴史に関わる諸資料を整理・保存することの意味や意義に気付くようにすること。また，科目の内容に関係する（　ウ　）などとの円滑な連携・協働を図り，社会との関わりを意識した指導を工夫すること。

| | ア | イ | ウ |
|---|---|---|---|
| ① | 積極的に活用 | 公文書館 | 専門家や関係諸機関 |
| ② | 多面的・多角的に考察 | 博物館 | 学校図書館や地域の公共施設 |
| ③ | 積極的に活用 | 博物館 | 専門家や関係諸機関 |
| ④ | 積極的に活用 | 公文書館 | 学校図書館や地域の公共施設 |
| ⑤ | 多面的・多角的に考察 | 公文書館 | 専門家や関係諸機関 |

問５　江戸時代末期の開国前後の情勢について述べた次の各文のうち，正しいものを選びなさい。

①　1853年６月にアメリカのペリーが黒船４隻を率いて浦賀沖に現れ，フィルモア大統領の国書を提出して日本に開国を求めた。ついで７月には，ロシアの使節ラクスマンも根室に来航して，開国と国境の画定を要求した。

②　1854年の日米和親条約では，下田・箱館の２港を開いて領事の駐在を認めることやアメリカに一方的な最恵国待遇を与えることを取り決めた。幕府はついで，オランダ・ロシア・イギリス・フランスとも日米和親条約と類似の内容の和親条約を結んだ。

③　将軍継嗣問題に絡んで，幕政参画を目指す越前藩主松平慶永や薩摩藩主島津斉彬らは，水戸藩主徳川斉昭の子で一橋家を継いだ徳川慶喜を推し，将軍家定と血統の近い幼年の紀伊藩主徳川慶福を推して現体制を維持しようとする譜代大名らの南紀派と対立した。

④　1863年，尊王攘夷の立場をとる長州藩は関門海峡を通過する外国船を砲撃したが，翌年その報復として，イギリス・フランス・オランダ・ロシアの四国連合艦隊による下関砲台への攻撃を受けたため，藩内の攘夷派が失脚し開国派が主導権を握った。

問６　1940年代以前の昭和時代の経済について述べた次の各文のうち，正しいものを選びなさい。

①　1927年３月，衆議院での大蔵大臣の失言で銀行の危機的な経営状況が明らかになり，全国の銀行に預金者が殺到して銀行は営業を停止する事態となった。田中義一内閣は台湾銀行救済の緊急勅令を衆議院に否決され，その責任をとって退陣した。

②　浜口雄幸内閣は経済立直しのため，1930年１月に金解禁を実施した。しかし，折からの世界恐慌で輸出は大幅に減少し，都市には失業者があふれた。米の販売不振や生糸などの輸出減少で農家経営も苦しくなり，日本全体が深刻な不況となった。

③　満洲事変で中国から巨額の賠償金を得た日本は，これをもとに軍備拡張を推進するとともに，金融・貿易の制度面の整備を進めた。さらに，若槻礼次郎内閣は欧米にならって貨幣法を制定し，貨幣価値の安定と貿易の振興を図った。

④　日中戦争が始まると，第１次近衛文麿内閣は巨額の軍事予算を編成し，経済統制を行った。その結果，世界的な船舶不足を背景に船成金が次々生まれ，日本はイギリス・アメリカにつぐ世界第３位の海運国となった。

問７　世界恐慌とファシズムの台頭について述べた次の各文のうち，正しいものを選びなさい。

①　アメリカ合衆国のフランクリン＝ローズヴェルト大統領は，自由放任主義的な経済政策を打ち出し，農業調整法や全国産業復興法を制定した。

②　イギリスは金本位制を停止し，イギリス連邦内の関税を下げて連邦外の国に対して高関税をかける経済ブロックを形成した。

③　イタリアのムッソリーニは，ローマ進軍によって政権を掌握して一党独裁体制を樹立し，人民戦線戦術を展開した。

④　ナチ党を率いるヒトラーは，ヴェルサイユ体制の打破を唱えて支持を拡大し，政権獲得後は共産党と連携して全権委任法を制定した。

問８　冷戦の終結とソヴィエト連邦の解体について述べた次の各文のうち，**誤っているもの**を選びなさい。

①　ソ連共産党書記長のゴルバチョフとアメリカ合衆国大統領のブッシュは，地中海のマルタ島で会談し，冷戦の終結を宣言した。

②　1980年代のソ連では，ペレストロイカやグラスノスチなどによって経済の立て直しを図るとともに，中距離核戦力（INF）全廃条約を締結して核軍縮を実現した。

③　ソ連を構成する15の共和国によって独立国家共同体が結成されることによってソ連は解体し，この影響を受けてベルリンの壁が開放された。

④　ポーランドでは，ワレサが率いる自主管理労働組合「連帯」が議会選挙に勝利して政権をとり，共産党による支配が終わった。

問９　統計地図とその利用について述べた次の各文のうち，**誤っているもの**を選びなさい。

①　ドットマップは，その地点での数量を点の多さで表現し，分布状況や量を視覚的にとらえやすいという特徴がある。

②　階級区分図は，絶対分布図の一つで，人口密度のように統計地域ごとの比率や，一人当たりのGNIなどの数値が色彩や模様のパターンで表現される。

③　カルトグラムは，統計数値の大小を効果的に示すため，もとの地図を変形して表現したものだが，もとの地図の正しい面積情報を知っていることが前提となる。

④　メッシュマップは，地域を等面積の多数のメッシュ（網目）に区切り，各メッシュを単位として統計数値を地図化したものである。

問10　気候要素と気候因子について述べた次の各文のうち，正しいものを選びなさい。

①　年中決まった方向に吹く風は，恒常風とよばれる。亜熱帯高圧帯からは，熱帯収束帯へと向かう東寄りの偏西風が吹く。

②　気温の分布に影響を与えるものの一つとして，陸地を覆う土や岩石がある。それらに比べ，水の性質上，海に近い所では，気温の年較差が比較的小さい気候になりやすい。

③　冬のモンスーンは，陸地の気圧が下がり，相対的に気圧が上がった海洋から陸地に向かって吹く風である。日本付近では，この風が日本海側の大雪をもたらす。

④　熱帯低気圧は，海面水温が高い低緯度の海上で発生・発達する低気圧であり，一定以上の風速に達すると，大西洋と北東太平洋ではサイクロンと呼ばれる。

※ 問26 ～ 問38 の解答は，全て選択肢から一つ選び，「ＯＣＲ解答用紙」にマークしなさい。
※ 問39 ～ 問40 の解答は，全て「解答用紙（記述用）」に記入しなさい。

地理歴史（地理）問題

問26　さまざまな地形や気候について述べた次の各文のうち，**誤っているもの**を選びなさい。

①　プレートが広がる境界であり，海嶺の一部が地表にあらわれたアイスランドでは，広がる境界に沿って線状噴火をおこす火山がみられる。

②　海洋プレートがほかの大陸プレートの下へ斜めに沈み込んでいる境界では，海底は急に深くなって海溝となり，海溝と平行に弧状列島ができる。

③　ケッペンの気候区分では，温帯（C）は最寒月平均気温が－３℃以上18℃未満で定義される。地中海性気候（Cs）は，地中海沿岸だけではなく，北アメリカ大陸においてもみられる。

④　プレート運動の影響で，プレートの境の地域では，地震や火山活動が活発な地域が多くみられる。アフリカ大陸は，大半が安定陸塊のため，地震はみられない。

問27　世界の交通について述べた次の各文のうち，**誤っているもの**を選びなさい。

①　地域の中心となる拠点空港で周辺に航空路線を放射状にのばしている空港をハブ空港という。ドイツのフランクフルト，アラブ首長国連邦のドバイなどが該当し，国内外の航空路線が集中している。

②　内陸水路を航行する河川交通は，ヨーロッパのライン川やエルベ川など運河網が整備され，貨物輸送の輸送路となっている。海上交通では，コンテナ船が普及し，シンガポールや上海は，貨物取扱量の多い港湾都市として知られる。

③　先進国でも国によって輸送手段の内訳には違いがある。先進国では旅客・貨物輸送ともに航空機が中心であるが，日本はアメリカ合衆国と比べて，旅客輸送に占める鉄道の割合が高く，貨物輸送では船舶の割合が高くなっている。

④　自動車（ガソリン車）は，輸送量あたりの二酸化炭素の排出が多いことから，近年では，環境への負荷の少ない鉄道や船舶による輸送に転換するモーダルシフトが進められている。

問28　地球環境問題について述べた次の各文のうち，正しいものを選びなさい。

①　地球温暖化の主な原因は，人間の経済活動による温室効果ガスの増加と考えられており，なかでも2021年の二酸化炭素排出量が最も多いのはアメリカ合衆国，次いで中国である。

②　砂漠化が進む中国内陸部やオーストラリア内陸部，北アメリカのグレートプレーンズなどでは，過剰な灌漑による土壌の塩性化により，耕地が放棄されることもある。

③　大気汚染は，偏西風や季節風にのって発生源以外の国にも広がるため，長距離越境大気汚染条約には中国を中心とするアジア諸国が批准している。

④　1992年にストックホルムで開催された国連環境開発会議（地球サミット）の後，持続可能な開発や生物多様性という言葉が広がっていった。

⑤　脱炭素社会に向けて，日本を含む多くの国が2030年までに温室効果ガスの排出量を実質ゼロにするカーボンニュートラルの実現を目指している。

問29　日本の農業の現状と課題について述べた次の各文のうち，**誤っているもの**を選びなさい。

①　農業体験や直売所の訪問などを含むアグリツーリズムや，景観や文化の保全といった農業の多面的機能を生かした農村地域の振興が行われている。

②　日本で育成された品種が海外に流出し，それが現地で生産されるといった問題への対処が必要となっている。

③　地域の産業としての農業の魅力を高めるため，生産だけでなく加工や流通・販売にも農家や地域の人々が関わり，所得や雇用の増大を目指す６次産業化が盛んである。

④　日本では，狭い耕地に肥料や農薬を大量に投下して高収量をあげる集約的な農業を行ってきたため，生産費はかかるが，耕地１haあたりの農業産出額は高い。

⑤　近年では，ICTを活用して作業を省力化・効率化するスマートアグリの技術開発が本格化し，これまで機械化が困難だった露地野菜の栽培でも労働力不足が解消された。

問30　次のグラフは，主な国の農業生産性を示したものである。グラフ中のＡ～Ｃに当てはまる国の組合せが正しいものを選びなさい。

主な国の農業生産性（2020年）

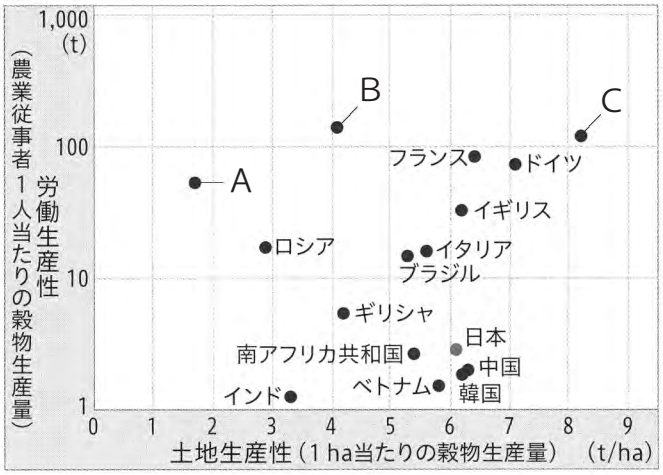


（FAO資料ほか）

| | A | B | C |
|---|---|---|---|
| ① | カナダ | オーストラリア | アメリカ合衆国 |
| ② | カナダ | アメリカ合衆国 | オーストラリア |
| ③ | アメリカ合衆国 | カナダ | オーストラリア |
| ④ | オーストラリア | カナダ | アメリカ合衆国 |
| ⑤ | オーストラリア | アメリカ合衆国 | カナダ |

問31　エネルギー資源と再生可能エネルギーについて述べた次の各文のうち，**誤っているもの**を選びなさい。

①　外国資本の支配に不満をもっていた産油国では，資源ナショナリズムの動きが高まり，1960年に石油輸出国機構（OPEC）を結成した。

②　石油輸出国機構（OPEC）は，1973年のイラン＝イスラーム革命をきっかけに原油の価格や産油量の決定権を獲得し，石油危機を引きおこした。

③　2000年代に入り世界的なエネルギー需要の増加に伴って，石油メジャーはシェールガスやシェールオイル，オイルサンドなどの新たな化石燃料の開発を進めている。

④　発電所で電力を生み出した際に発生する廃熱を，給湯や冷暖房などに利用するコジェネレーションシステムの開発と利用が各地で進められている。

⑤　バイオ燃料は，アメリカ合衆国ではとうもろこし，ブラジルではさとうきびを主な原料としており，アメリカ合衆国とブラジルが世界の生産量のほとんどを占めている。

問32　次の表は，主な国の機械類の輸出額を示したものである。表中のア～エに当てはまる国の組合せが正しいものを選びなさい。

（百万ドル）

| 2023年 | 一般機械 | 電気機械 | 自動車 | 航空機 | 船　舶 |
|---|---|---|---|---|---|
| ア | 328 168 | 1 042 297 | 197 862 | 5 214 | 31 873 |
| イ | 264 018 | 207 240 | 283 821 | 34 048 | 5 673 |
| ウ | 198 595 | 245 083 | 147 120 | 11 339 | 3 168 |
| エ | 128 509 | 106 438 | 155 721 | 2 110 | 9 716 |
| 韓　国 (※) | 59 860 | 192 879 | 74 278 | 1 653 | 17 138 |

(※) 2022年

（データブック オブ・ザ・ワールド　2025年版による）

| | ア | イ | ウ | エ |
|---|---|---|---|---|
| ① | アメリカ合衆国 | ドイツ | 中　国 | 日　本 |
| ② | アメリカ合衆国 | 日　本 | 中　国 | ドイツ |
| ③ | 中　国 | アメリカ合衆国 | ドイツ | 日　本 |
| ④ | 中　国 | ドイツ | アメリカ合衆国 | 日　本 |
| ⑤ | 中　国 | アメリカ合衆国 | 日　本 | ドイツ |

問33　経済発展と第３次産業について述べた次の各文のうち，**誤っているもの**を選びなさい。

①　経済が発展すると，第１次産業から第２次産業，第３次産業へと主力となる産業が変化する産業構造の高度化が進み，都市人口比率の上昇をもたらす。

②　日本では，1950年代以降の工業化の進展に伴い第１次産業人口が減少し，1970年代には石油危機を契機に第２次産業人口も減少した。

③　第１次産業や第２次産業においても，情報通信技術（ICT）を導入し，付加価値を高める工夫をするようになってきている。

④　電子商取引は，最初は企業間の取り引きが中心であったが，インターネットの普及に伴い，消費者向けのオンラインショッピングが急成長した。

⑤　小売業において，食料品や日用品などの買い回り品を求める消費者を顧客とする小規模なスーパーマーケットなどは商圏が比較的小さく，分散して立地する。

問34　次のグラフは，主な国の出生率と死亡率を示したものである。各グラフのア～エに当てはまる国の組合せが正しいものを選びなさい。

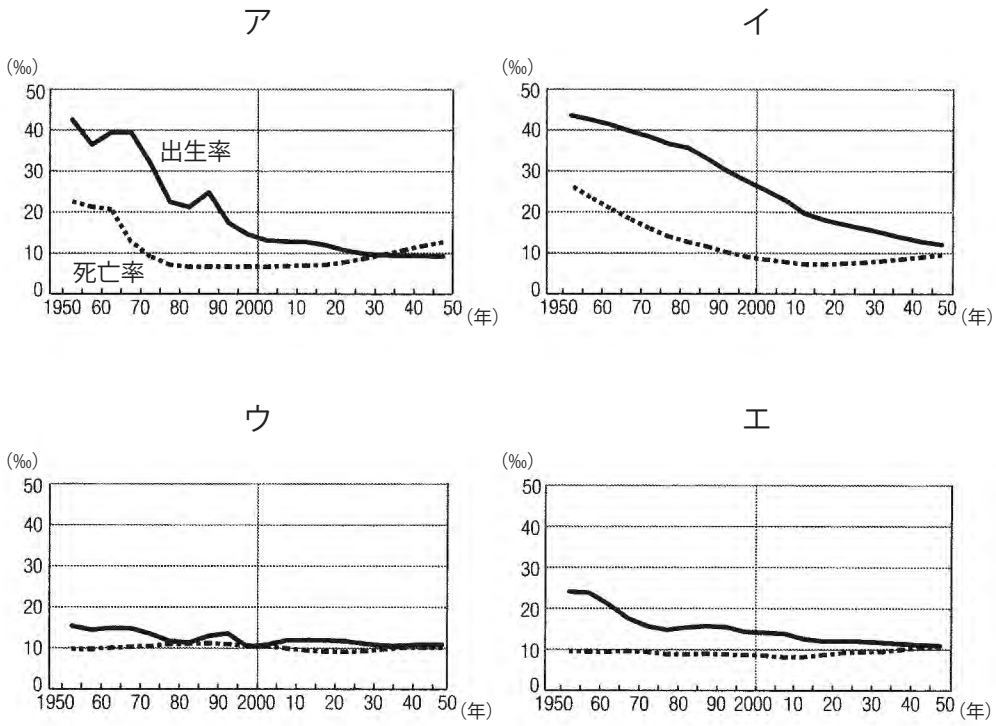


（データブック オブ・ザ・ワールド　2025年版による）

| | ア | イ | ウ | エ |
|---|---|---|---|---|
| ① | 中　国 | インド | スウェーデン | アメリカ合衆国 |
| ② | 中　国 | アメリカ合衆国 | スウェーデン | インド |
| ③ | インド | 中　国 | アメリカ合衆国 | スウェーデン |
| ④ | インド | アメリカ合衆国 | 中　国 | スウェーデン |
| ⑤ | インド | 中　国 | スウェーデン | アメリカ合衆国 |

問35　世界の民族と宗教について述べた次の各文のうち，**誤っているもの**を選びなさい。

①　西アジアのトルコやイラン，イラク，シリアにまたがる山岳地域はクルディスタンとよばれ，そこで暮らすクルド人は自治や独立の運動をおこし各国政府から激しく弾圧された。

②　カフカス地方は，古くから民族移動や交易が盛んで，原油などの資源の産出地であり軍事的にも重要な地域であるため，民族間の対立と紛争が絶えない地域となっている。

③　中国のチベット族はイスラム教を信仰する人が多く，チベット自治区として民族自治区が認められており，中国からの独立を求める反政府運動がみられる。

④　ユダヤ人のシオニズム運動により，1948年にユダヤ人はイスラエルの建国を宣言し，パレスチナにもともと暮らしていたアラブ人はパレスチナ難民となった。

⑤　1991年のソ連解体の動きの中でチェチェン共和国の独立が宣言され，ムスリムが多くを占めるチェチェン民族がロシアからの独立を求めて戦った。

問36　オセアニアについて述べた次の各文のうち，正しいものを選びなさい。

①　オーストラリアの内陸部の大半は乾燥帯であるが，グレートディヴァイディング山脈よりも東側には地中海性気候が分布し，南西部には西岸海洋性気候がみられる。

②　オーストラリア大陸のグレートアーテジアン盆地では，被圧地下水を掘り抜き井戸でくみ上げ，その用途は主に小麦栽培に利用されてきた。

③　オーストラリアの白豪主義は，1970年代前半に撤廃され多文化主義を推進するようになり，先住民のマオリは独自の文化が尊重されるようになった。

④　ニュージーランドは牧畜大国で，牧羊は南北両島で盛んに行われており，西岸海洋性の湿潤な気候に適した羊毛用のメリノ種が中心である。

⑤　ニュージーランドはアジア諸国との結びつきを強めており，近年は輸出入ともに中国が最大の貿易相手国であるが，人の往来はオーストラリアが最大である。

問37　西アジアと中央アジアについて述べた次の各文のうち，**誤っているもの**を選びなさい。

①　西アジアは，アラビア半島をのせたアラビアプレートが，その北にあるユーラシアプレートに衝突して衝突帯を形成し，高原や険しい山脈をつくり地震が多い。

②　中央アジアは，大部分が安定地域に属しており，カザフステップなどの平原が広がる。カスピ海やアラル海などの塩湖が分布し，アラル海は湖の縮小が進んでいる。

③　イランではカナート，アフガニスタンではカレーズとよばれる地下水路を利用して，野菜や果物を栽培するオアシス農業が行われてきた。

④　産油国は1970年代半ば以降，石油収入を増大させたが，1980年代に石油収入が頭打ちになり，石油輸出で得た利益を観光産業などに投入するようになった。

⑤　「アラブの春」は，2011年にシリアにも波及し内戦が発生した。国内の多くの人々が国外に難民として逃れ，隣国のトルコへ逃れた難民が最も多い。

問38　北アフリカとサハラ以南アフリカについて述べた次の各文の正誤を判断し，その組合せが正しいものを選びなさい。

ア　北アフリカ・サハラ以南アフリカの両地域は，そのほとんどが安定地域であり大陸の平均高度は約750mで，台地や高原が多くなっている。

イ　サハラ以南アフリカでは，赤道付近に熱帯林が広がり，赤道から離れるにつれてステップの草原が，南北の回帰線付近には砂漠が分布する。

ウ　1960年代にはアフリカの多くの国が独立し，植民地時代の境界を引き継いだ人為的国境が多く，民族間の対立や内戦を引きおこす原因となった。

エ　ルワンダでは，第一次世界大戦後に少数派のフツ族と多数派のツチ族の対立がみられたが，現在は「アフリカの奇跡」とよばれる復興を遂げている。

オ　サハラ以南アフリカは経済の多角化が進められており，近年では資源確保の目的からインフラ建設における中国の進出が著しく，結びつきが強まりつつある。

| | ア | イ | ウ | エ | オ |
|---|---|---|---|---|---|
| ① | 正 | 誤 | 正 | 正 | 誤 |
| ② | 正 | 誤 | 正 | 誤 | 正 |
| ③ | 正 | 正 | 誤 | 誤 | 誤 |
| ④ | 誤 | 正 | 誤 | 正 | 正 |
| ⑤ | 誤 | 正 | 正 | 正 | 誤 |

問39　都市型水害の要因と特徴について，80字以内（句読点を含む）で説明しなさい。

問40　東南アジアにおける油やしの栽培面積が増加している理由について，パーム油の生産上位２カ国を示し，70字以内（句読点を含む）で説明しなさい。

# 解答用紙（記述用）

| 地理歴史（地　理） | 1の1 |
|---|---|

（令和８年度）

| 受験番号 | 氏　　名 |
|---|---|
| 第　　番 | |

問39

10　　20

問40

10　　20

令和8年度　福岡県公立学校教員採用候補者選考試験　解答及び配点

教科・科目　　地理歴史

| | 解　答 | 配　点 | | 解　答 | 配　点 |
|---|---|---|---|---|---|
| 問１ | ③ | 4 | 問２６ | ④ | 7 |
| 問２ | ④ | 4 | 問２７ | ③ | 7 |
| 問３ | ④ | 4 | 問２８ | ② | 7 |
| 問４ | ③ | 4 | 問２９ | ⑤ | 7 |
| 問５ | ③ | 4 | 問３０ | ④ | 6 |
| 問６ | ② | 4 | 問３１ | ② | 7 |
| 問７ | ② | 4 | 問３２ | ④ | 6 |
| 問８ | ③ | 4 | 問３３ | ⑤ | 7 |
| 問９ | ② | 4 | 問３４ | ① | 7 |
| 問１０ | ② | 4 | 問３５ | ③ | 6 |
| 問１１ | ③ | 7 | 問３６ | ⑤ | 6 |
| 問１２ | ① | 6 | 問３７ | ① | 6 |
| 問１３ | ④ | 6 | 問３８ | ② | 6 |
| 問１４ | ④ | 7 | 問３９ | 記述 | 13 |
| 問１５ | ② | 7 | 問４０ | 記述 | 12 |
| 問１６ | ⑤ | 7 | 問４１ | | |
| 問１７ | ④ | 6 | 問４２ | | |
| 問１８ | ② | 6 | 問４３ | | |
| 問１９ | ③ | 7 | 問４４ | | |
| 問２０ | ② | 7 | 問４５ | | |
| 問２１ | ④ | 7 | 問４６ | | |
| 問２２ | ⑤ | 6 | 問４７ | | |
| 問２３ | ⑤ | 6 | 問４８ | | |
| 問２４ | 記述 | 13 | 問４９ | | |
| 問２５ | 記述 | 12 | 問５０ | | |

# 解答用紙（記述用）

| 地理歴史<br>（　　） | |
|---|---|

（令和８年度）

| 受験番号 | 氏　　名 |
|---|---|
| 第　　番 | 解　答　例 |

問 24（13 点）

10　　20

| | | | | | | | | | | | | | | | | | | | |
|---|---|---|---|---|---|---|---|---|---|---|---|---|---|---|---|---|---|---|---|
| 分 | 一 | 銭 | と | い | う | 債 | 務 | 額 | ・ | 債 | 権 | 額 | の | 1 | 0 | 分 | の | 1 | 又 |
| は | 5 | 分 | の | 1 | の | 手 | 数 | 料 | を | 幕 | 府 | に | 納 | 入 | す | る | こ | と | を |
| 条 | 件 | に | , | 債 | 務 | の | 破 | 棄 | 又 | は | 債 | 権 | の | 保 | 護 | を | 認 | め | た |
| も | の | を | 分 | 一 | 徳 | 政 | 令 | と | い | う | 。 | | | | | | | | |

問 25（12 点）

10　　20

| | | | | | | | | | | | | | | | | | | | |
|---|---|---|---|---|---|---|---|---|---|---|---|---|---|---|---|---|---|---|---|
| ア | リ | ー | の | 血 | 統 | を | 支 | 持 | す | る | シ | ー | ア | 派 | は | ウ | マ | イ | ヤ |
| 朝 | に | よ | る | 支 | 配 | に | 反 | 対 | し | , | 異 | 民 | 族 | の | イ | ス | ラ | ー | ム |
| 改 | 宗 | 者 | は | 特 | 権 | 的 | な | ア | ラ | ブ | 人 | 支 | 配 | 層 | に | 対 | す | る | 不 |
| 満 | を | 持 | っ | て | い | た | 。 | | | | | | | | | | | | |

問 39（13 点）

10　　20

| | | | | | | | | | | | | | | | | | | | |
|---|---|---|---|---|---|---|---|---|---|---|---|---|---|---|---|---|---|---|---|
| 都 | 市 | で | は | , | 地 | 表 | 面 | の | 大 | 部 | 分 | が | ア | ス | フ | ァ | ル | ト | や |
| コ | ン | ク | リ | ー | ト | で | 覆 | わ | れ | て | い | る | た | め | , | 降 | っ | た | 雨 |
| が | ほ | と | ん | ど | 地 | 下 | に | 浸 | 透 | せ | ず | , | 河 | 川 | 水 | 位 | の | 急 | 激 |
| な | 上 | 昇 | , | 低 | 地 | や | 地 | 下 | 街 | の | 浸 | 水 | が | 起 | き | る | こ | と | 。 |

問 40（12 点）

10　　20

| | | | | | | | | | | | | | | | | | | | |
|---|---|---|---|---|---|---|---|---|---|---|---|---|---|---|---|---|---|---|---|
| 世 | 界 | 的 | な | 油 | 脂 | の | 消 | 費 | 拡 | 大 | に | よ | っ | て | , | 油 | や | し | か |
| ら | と | れ | る | パ | ー | ム | 油 | の | 需 | 要 | が | 増 | 加 | し | た | ため | , | イ | |
| ン | ド | ネ | シ | ア | や | マ | レ | ー | シ | ア | で | の | 油 | や | し | の | 栽 | 培 | 面 |
| 積 | が | 増 | 加 | し | た | 。 | | | | | | | | | | | | | |