令和６年度

福岡県公立学校教員

採用候補者選考試験問題

中　学　校　社　会

1　中学校社会の問題は下記のとおりです。
　　択一問題　問１～問18まで
　　記述問題　問19～問23まで

2　択一問題は，全て「ＯＣＲ解答用紙」に記入してください。

3　記述問題は，全て「解答用紙（記述用）」に記入してください。

問１ ～ 問18 の解答は，全て [　　] の①～⑤から一つ選び，その番号を「ＯＣＲ解答用紙」にマークしなさい。

問１　次の文は，中学校学習指導要領解説社会編（平成29年文部科学省）「第２章　社会科の目標及び内容」「第２節　各分野の目標及び内容」「１　地理的分野の目標，内容及び内容の取扱い」の一部を抜粋したものである。文中の（　ア　）～（　オ　）に当てはまる語句の正しい組合せを選びなさい。ただし，同じ記号には同じ語句が入る。

> 我が国の国土及び世界の諸地域に関してについては，平成20年改訂の趣旨を引き継いで，中学校社会科の地理的分野が我が国の国土と世界の諸地域の両方を学習対象とすることを示している。ここで言う「国土」とは，山地，平野，海岸などの自然物からなる土地それ自体だけを指すのではなく，そこに居住し生活する人々及び社会の実態や，人間の土地への（　ア　）を含めたものである。
>
> 地域の諸事象や地域的特色を理解するについては，後述する「多面的・多角的に考察したり，地理的な課題の解決に向けて公正に（　イ　）したりする」学習過程を前提に，地域に関わる諸事象や特色を理解することを意味している。「地域的特色」は，大きく見ると，地域の環境条件，他地域との結び付き及びそこに居住してより豊かな生活を実現するために努力している人々の（　ウ　）との関わりの中で生み出され，地域の環境条件，他地域との結び付き，人々の（　ウ　）が相互に影響を及ぼしながら地域的特色は形成され，（　エ　）している。よって，（　オ　）の狭い学習により，単に地理的な知識を詰め込むのではなく，広い（　オ　）に立ち，地域に関わる諸事象や特色を理解することが大切である。

	ア	イ	ウ	エ	オ
①	対応の仕方	選別・決断	営　み	変　化	見　識
②	順応力	選択・判断	生　業	変　容	見　識
③	対応の仕方	選択・判断	営　み	変　容	視　野
④	対応の仕方	選別・決断	生　業	変　化	視　野
⑤	順応力	選択・判断	営　み	変　化	視　野

問２　次の文は，中学校学習指導要領解説社会編（平成29年文部科学省）「第２章　社会科の目標及び内容」「第２節　各分野の目標及び内容」「２　歴史的分野の目標，内容及び内容の取扱い」の一部を抜粋したものである。文中の（　ア　）～（　オ　）に当てはまる語句の正しい組合せを選びなさい。ただし，同じ記号には同じ語句が入る。

> よりよい（　ア　）を視野にそこで見られる課題を（　イ　）追究，解決しようとする態度を養うについては，教科目標に「社会的事象について，よりよい（　ア　）を視野に課題を（　イ　）解決しようとする態度を養う」と示されたことを受けて，歴史に関わる諸事象について，生徒自らが関心をもって学習に取り組むことができるようにするとともに，学習を通して更に関心を高めるよう指導を工夫することを示している。
>
> 多面的・多角的な考察や深い理解とは，社会科の学習における考察や理解の特質を示している。そして，そうした学習を通して（　ウ　）される我が国の歴史に対する愛情，国民としての（　エ　），国家及び社会並びに文化の発展や人々の生活の向上に尽くした歴史上の人物と現在に伝わる（　オ　）を尊重しようとすることの大切さについての（　エ　）などを深め，「学びに向かう力，人間性等」を養うことを示している。

	ア	イ	ウ	エ	オ
①	生活の達成	対話して	涵　養	矜　持	年中行事
②	社会の実現	主体的に	涵　養	自　覚	年中行事
③	生活の達成	対話して	育　成	自　覚	年中行事
④	社会の実現	主体的に	涵　養	自　覚	文化遺産
⑤	社会の実現	対話して	育　成	矜　持	文化遺産

問３　次の《表》は，中学校学習指導要領解説社会編（平成29年文部科学省）「参考資料３　社会的事象等について調べまとめる技能」の一部を抜粋したものである。文中の（　ア　）～（　オ　）に当てはまる語句の正しい組合せを選びなさい。ただし，同じ記号には同じ語句が入る。

《表》

		技能の例（小・中・高等学校）
情報を読み取る技能	収集した情報を社会的な見方・考え方に沿って読み取る技能	【１】情報全体の傾向性を踏まえて ・位置や分布，広がり，形状などの全体的な傾向を読み取る ・量やその変化，区分や移動などの全体的な傾向を読み取る ・博物館や郷土資料館等の展示品目の配列から，展示テーマの（　ア　）を読み取る 【２】必要な情報を選んで ○事実を（　イ　）読み取る ・形状，色，数，種類，大きさ，名称などに関する情報を読み取る ・方位，記号，高さ，区分などを読み取る（地図） ・年号や時期，前後関係などを読み取る（年表） ○有用な情報を選んで読み取る ・学習上の課題の解決につながる情報を読み取る ・諸情報の中から，（　ウ　）情報を選別して読み取る ○信頼できる情報について読み取る 【３】複数の情報を見比べたり（　エ　）たりして ・異なる情報を見比べ（時期や範囲の異なる地域の様子など）たり，（　エ　）（地形条件と土地利用の様子など）たりして読み取る ・同一の事象に関する異種の資料（グラフと文章など）の情報を見比べたり（　エ　）たりして読み取る ・同種の資料における異なる表現（複数の地図，複数のグラフ，複数の新聞など）を見比べたり（　エ　）たりして読み取る 【４】資料の（　オ　）に留意して ・地図の主題や示された情報の種類を踏まえて読み取る ・歴史資料の作成目的，作成時期，作成者を踏まえて読み取る ・統計等の単位や比率を踏まえて読み取る

	ア	イ	ウ	エ	オ
①	趣　旨	正確に	目的に応じた	結び付け	特　性
②	趣　旨	正確に	様々な	統合し	特　性
③	主　張	詳細に	目的に応じた	統合し	特　性
④	主　張	詳細に	目的に応じた	結び付け	重要度
⑤	趣　旨	詳細に	様々な	結び付け	重要度

※　次の略地図を見て，問４に答えなさい。

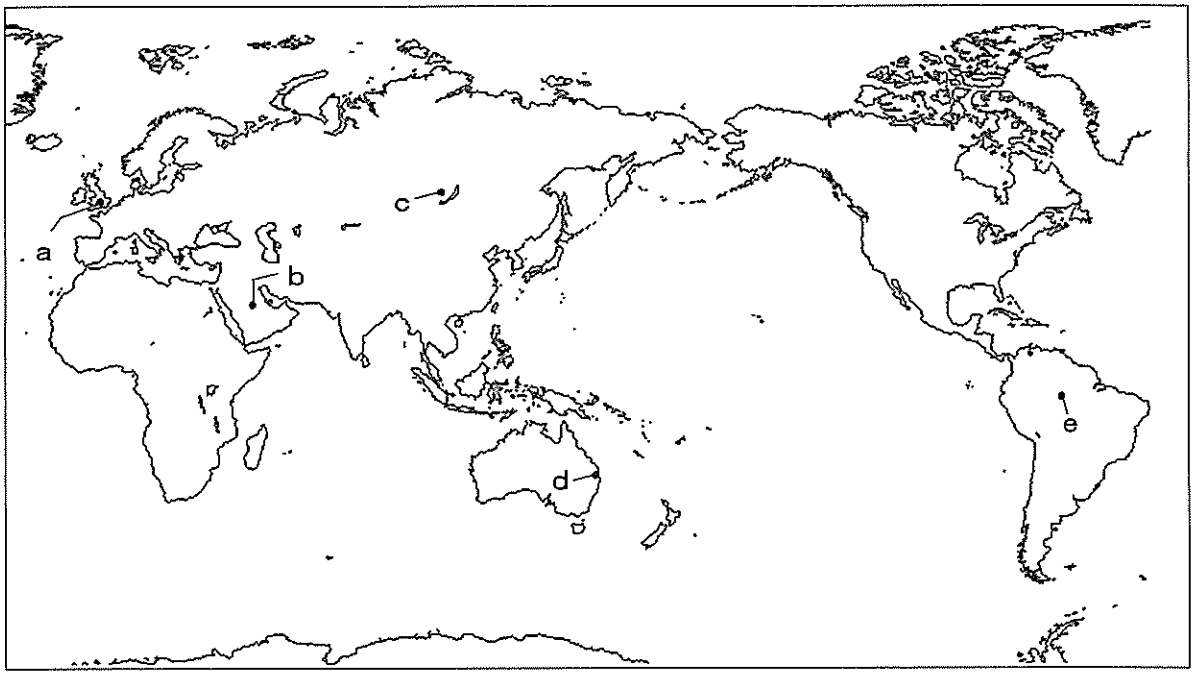

問４　次の《資料》のア～オは，略地図中ａ～ｅのいずれかの都市の雨温図（1991年～2020年の平年値）を示している。ア～オに当てはまる都市の正しい組合せを選びなさい。

《資料》

ア

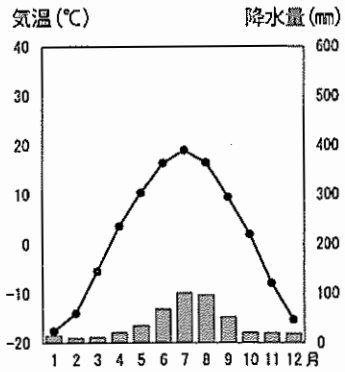

年平均気温　1.4℃
年降水量　471.8mm

イ

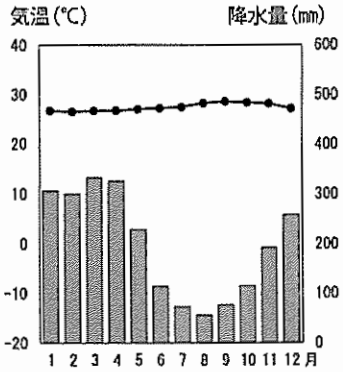

年平均気温　27.5℃
年降水量　2381.2mm

ウ

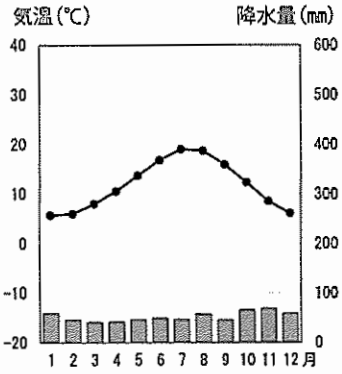

年平均気温　11.8℃
年降水量　633.4mm

エ

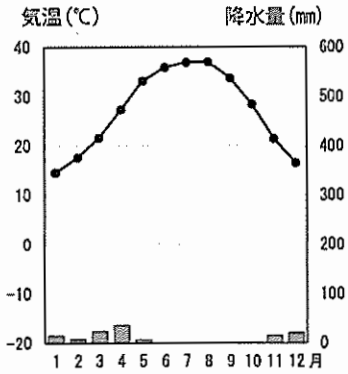

年平均気温　27.0℃
年降水量　127.3mm

オ

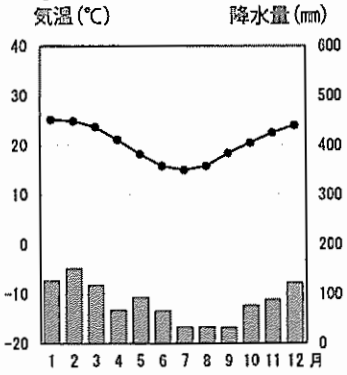

年平均気温　20.4℃
年降水量　1011.6mm

（気象庁ホームページ「世界の地点別平年値」から作成）

	ア	イ	ウ	エ	オ
①	b	d	a	c	e
②	b	e	a	c	d
③	c	d	e	b	a
④	c	e	a	b	d
⑤	b	e	c	d	a

問５　次の《資料》は，日本とＥＵ，ＡＳＥＡＮ，アジアＮＩＥＳ，中国，アメリカ合衆国との貿易総額の推移を示している。Ａ～Ｅに当てはまる国や地域の正しい組合せを選びなさい。

《資料》日本とＥＵ，ＡＳＥＡＮ，アジアＮＩＥＳ，中国，アメリカ合衆国との貿易総額の推移

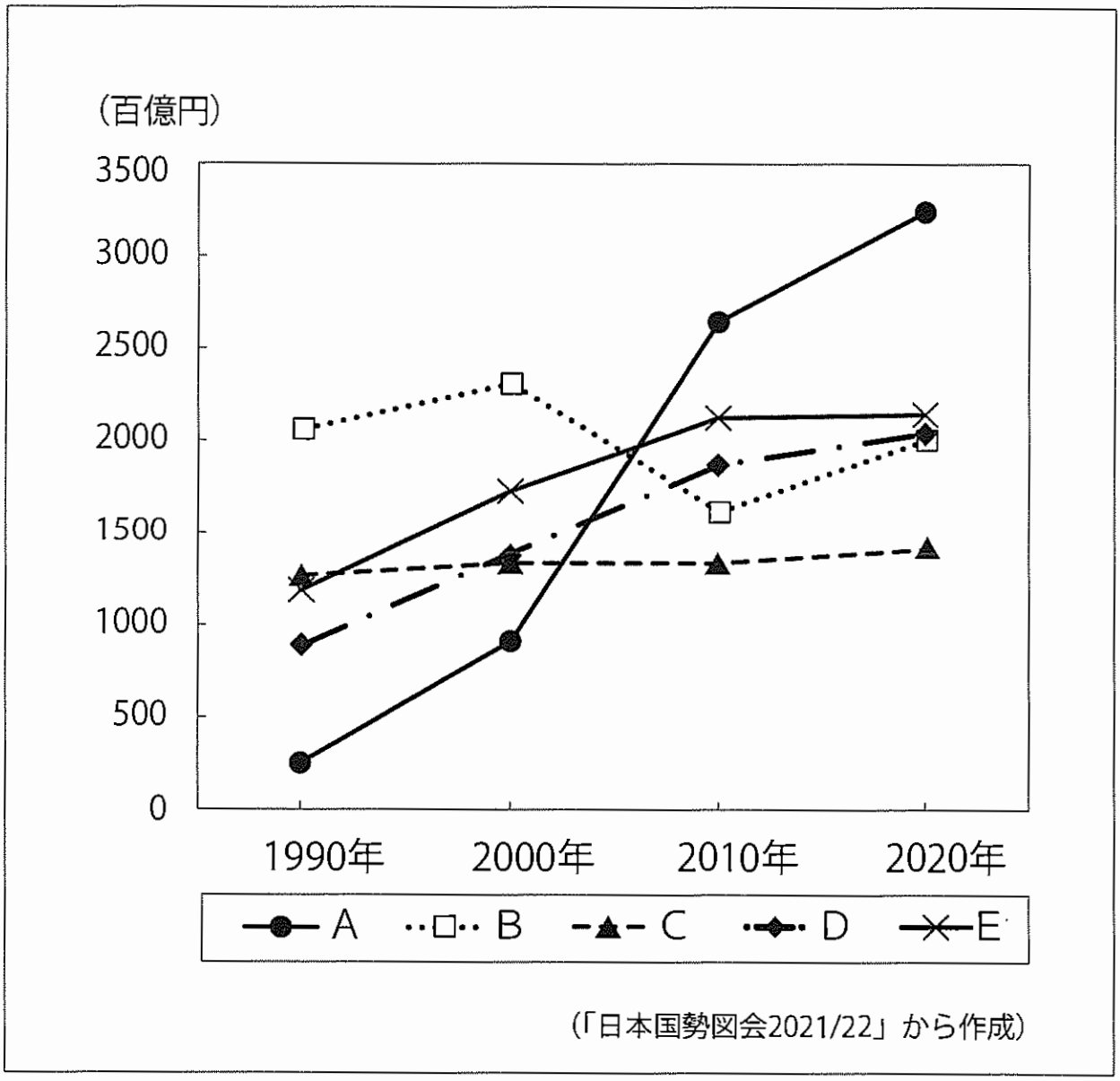

（「日本国勢図会2021/22」から作成）

	A	B	C	D	E
①	ＡＳＥＡＮ	アメリカ	アジアＮＩＥＳ	中　国	Ｅ　Ｕ
②	ＡＳＥＡＮ	Ｅ　Ｕ	アジアＮＩＥＳ	中　国	アメリカ
③	中　国	Ｅ　Ｕ	アメリカ	ＡＳＥＡＮ	アジアＮＩＥＳ
④	中　国	アメリカ	Ｅ　Ｕ	アジアＮＩＥＳ	ＡＳＥＡＮ
⑤	中　国	アメリカ	Ｅ　Ｕ	ＡＳＥＡＮ	アジアＮＩＥＳ

問６　次の《資料》は，ヨーロッパ，アフリカ，アジア，オセアニア，北アメリカ，ラテンアメリカの地域の人口の変化を示している。Ａ～Ｅに当てはまる地域の正しい組合せを選びなさい。

《資料》ヨーロッパ，アフリカ，アジア，オセアニア，北アメリカ，ラテンアメリカの人口の変化

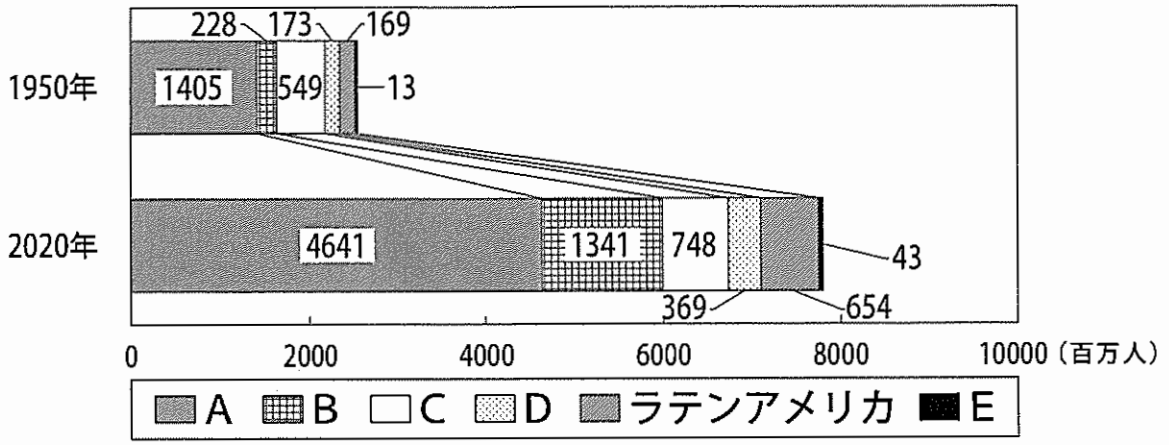

（「世界国勢図会 2021/22」から作成）

※　北アメリカ・・・・・・北部アメリカ
※　ラテンアメリカ・・・・カリブ海諸国，中央アメリカ及び南アメリカ

	A	B	C	D	E
①	アジア	アフリカ	北アメリカ	オセアニア	ヨーロッパ
②	アフリカ	アジア	北アメリカ	ヨーロッパ	オセアニア
③	アジア	アフリカ	ヨーロッパ	北アメリカ	オセアニア
④	アフリカ	アジア	オセアニア	北アメリカ	ヨーロッパ
⑤	アジア	アフリカ	オセアニア	北アメリカ	ヨーロッパ

※次の略地図を見て，問７に答えなさい。

問７　次の《資料Ⅰ》,《資料Ⅱ》は，それぞれ略地図中ア～オの各道県の農業産出額の内訳と各道県の食料自給率カロリーベースを示している。Ａ～Ｅに当てはまる各道県の正しい組合せを選びなさい。ただし，同じ記号には同じ道県が入る。

《資料Ⅰ》各道県別農業産出額の内訳（2020年）

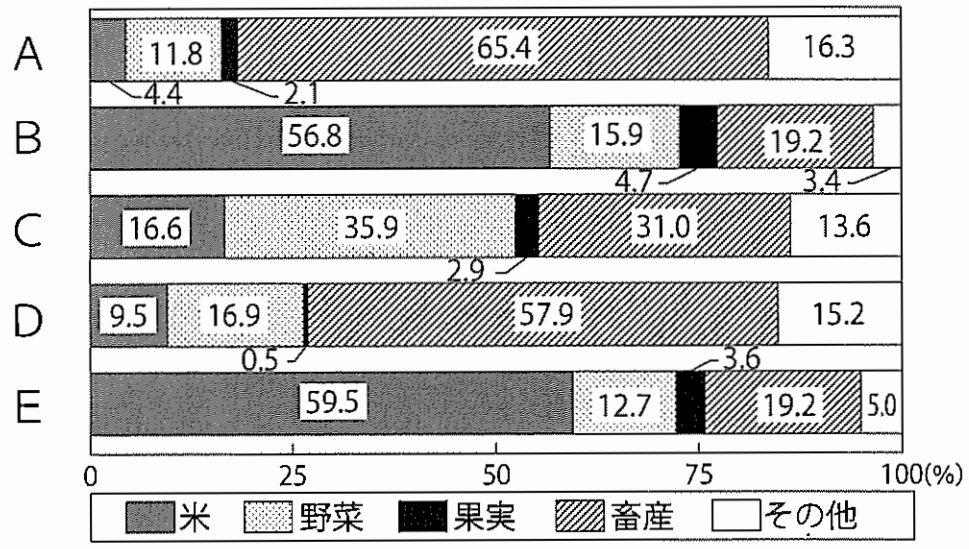

（「データでみる県勢2023」から作成）

《資料Ⅱ》各道県別食料自給率　カロリーベース（2020年度概算値）

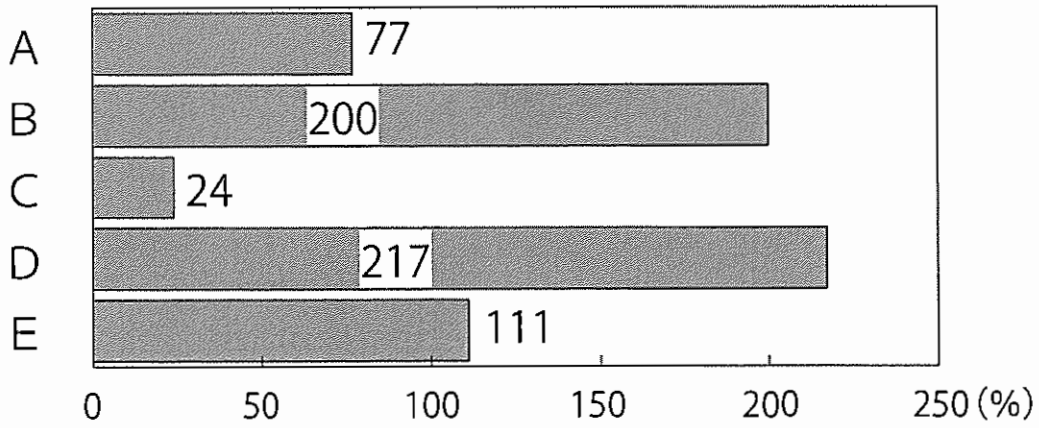

（農林水産省ホームページ「都道府県別食料自給率について」から作成）

	A	B	C	D	E
①	オ	イ	エ	ア	ウ
②	オ	ウ	エ	ア	イ
③	ア	イ	エ	オ	ウ
④	ア	ウ	オ	エ	イ
⑤	オ	ウ	ア	エ	イ

※次の略地図を見て，問８に答えなさい。

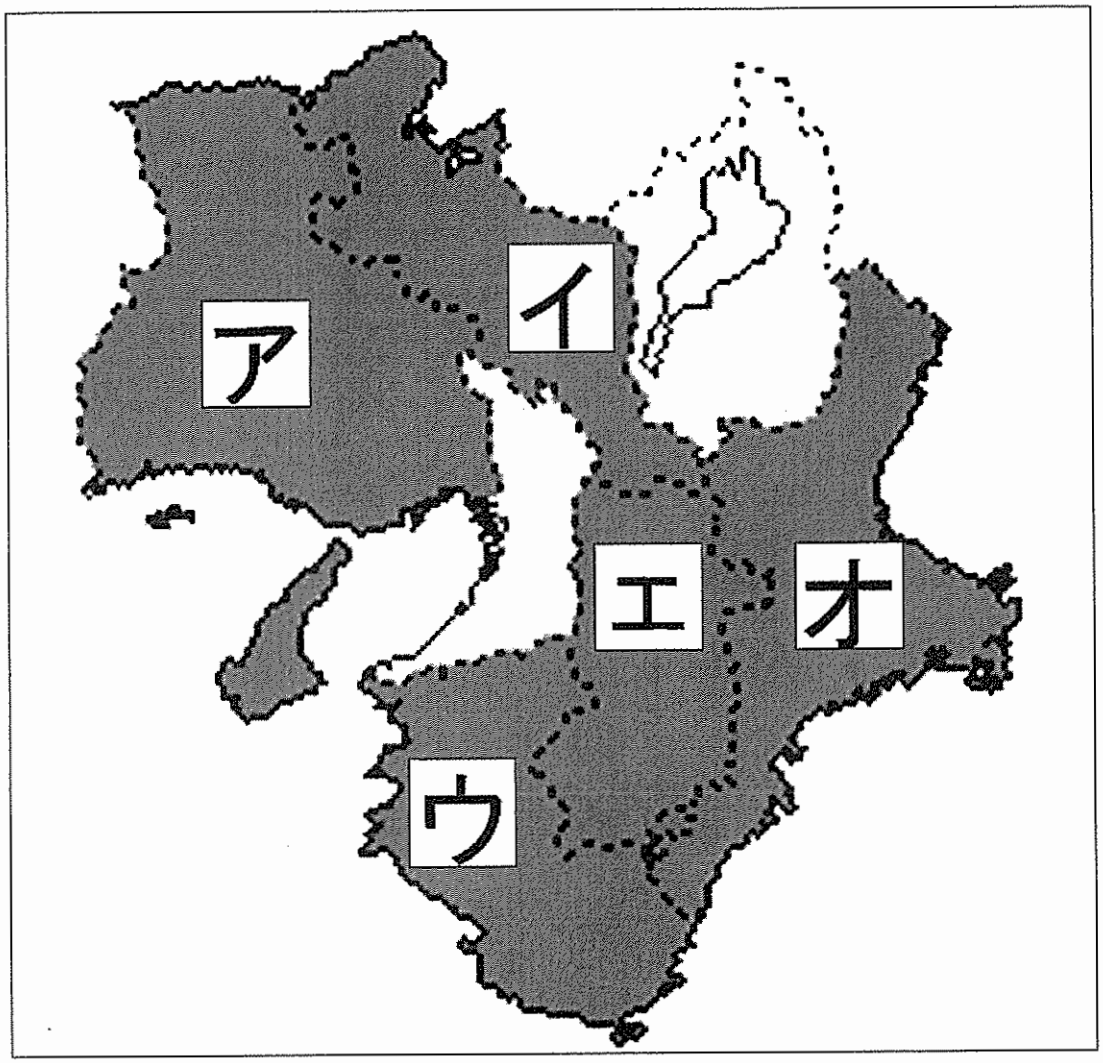

問８　次の《資料Ⅰ》,《資料Ⅱ》は，それぞれ略地図中ア～オの各府県（主目的地）の宿泊旅行の旅行目的別延べ旅行者数と国宝指定件数を示している。Ａ～Ｅに当てはまる各府県の正しい組合せを選びなさい。ただし，同じ記号には同じ府県が入る。

《資料Ⅰ》各府県（主目的地）の宿泊旅行の旅行目的別延べ旅行者数（2019年）

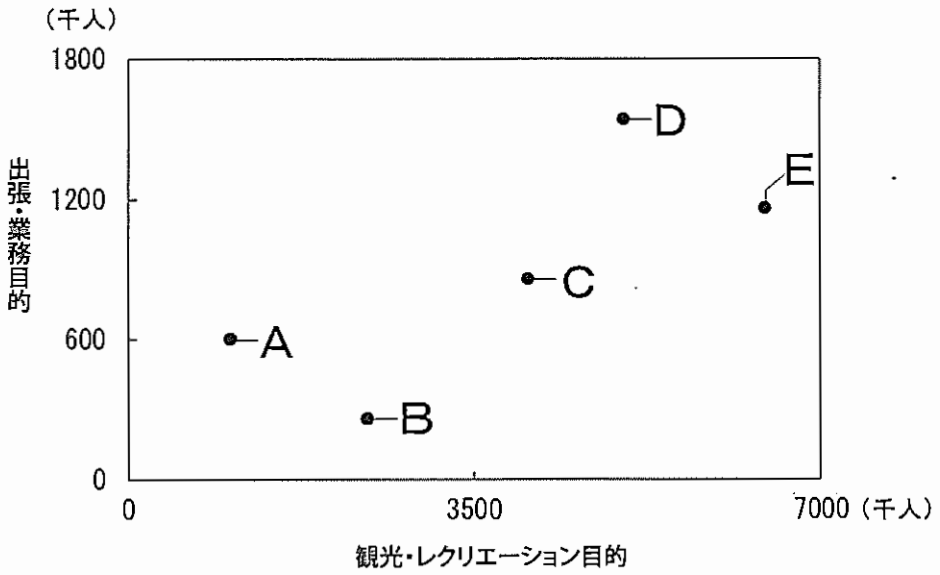

（「データでみる県勢2021」から作成）

《資料Ⅱ》各府県の国宝指定件数（2023年５月１日現在）

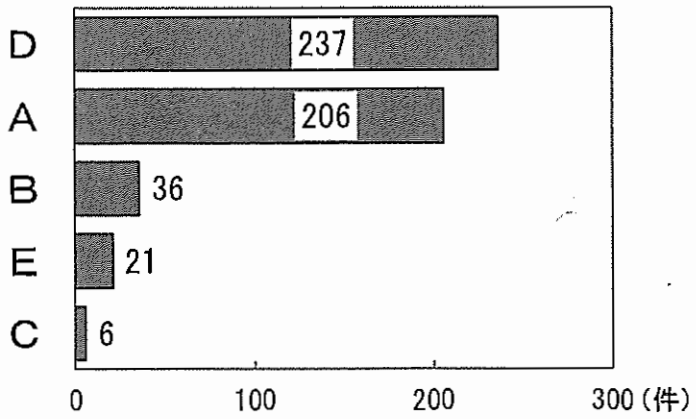

（文化庁ホームページ「文化財指定等の件数」から作成）

	A	B	C	D	E
①	イ	ウ	ア	エ	オ
②	エ	ウ	オ	イ	ア
③	エ	ア	オ	イ	ウ
④	イ	オ	ア	エ	ウ
⑤	エ	オ	ウ	イ	ア

問９　次の《表》は，世界の小麦，大豆，米，自動車の総生産量（2018年）に占める上位５か国の生産量の割合を示している。Ａ～Ｄに当てはまる品目の正しい組合せを選びなさい。

《表》

項目／順位	A		B		C		D	
	国名	割合	国名	割合	国名	割合	国名	割合
１位	アメリカ	35.5%	中国	17.9%	中国	27.1%	中国	28.7%
２位	ブラジル	33.8%	インド	13.6%	インド	22.1%	アメリカ	11.7%
３位	ｱﾙｾﾞﾝﾁﾝ	10.8%	ロシア	9.8%	ｲﾝﾄﾞﾈｼｱ	10.6%	日本	10.0%
４位	中国	4.1%	アメリカ	7.0%	ﾊﾞﾝｸﾞﾗﾃﾞｼｭ	7.2%	インド	5.3%
５位	インド	4.0%	フランス	4.9%	ベトナム	5.6%	ドイツ	5.3%

（「世界国勢図会2020/21」から作成）

	A	B	C	D
①	大　豆	米	小　麦	自動車
②	大　豆	小　麦	米	自動車
③	小　麦	大　豆	自動車	米
④	大　豆	小　麦	自動車	米
⑤	小　麦	大　豆	米	自動車

問10　次の≪表≫は，欧米における革命についてまとめたものである。（　ア　）～（　オ　）に当てはまる最も適切な語句の組合せを選びなさい。ただし，同じ記号には同じ語句が入る。

≪表≫

国	出来事	法典等	法典等の部分要約
イギリス	（　ア　）革命始まる（1688年）	権利章典（1689年）	第１条　（　イ　）の同意なしに，国王の権限によって法律とその効力を停止することは違法である。 第４条　国王大権と称して，（　イ　）の承認なく，国王の統治のために税金を課すことは，違法である。
アメリカ	独立戦争勃発（1775年）	アメリカ独立宣言（1776年）	我々は以下のことを自明の真理であると信じる。人間はみな平等に創られ，ゆずりわたすことのできない権利を（　ウ　）によってあたえられていること，その中には，生命・自由・幸福の追求がふくまれていること，である。
フランス	フランス革命始まる（1789年）	（　エ　）宣言（1789年）	第１条　人は生まれながらに，自由で平等な権利を持つ。社会的な区別は，ただ公共の利益に関係のある場合にしか設けられてはならない。 第３条　主権の源は，もともと（　オ　）の中にある。どのような団体や個人であっても，（　オ　）から出たものでない権力を使うことはできない。 第11条　思想および言論の自由な発表は，人間の最も尊い権利の一つである。したがって，全ての市民は自由に話し，書き，印刷し，出版することができる。

	ア	イ	ウ	エ	オ
①	名　誉	議　会	大統領	人　権	国　民
②	名　誉	議　会	神	人　権	国　民
③	ピューリタン	国　会	神	共　和	国　民
④	ピューリタン	議　会	神	共　和	臣　民
⑤	ピューリタン	国　会	大統領	人　権	臣　民

問11　次の≪会話文≫は，≪写真≫ａ～ｅを見て生徒が奈良時代から平安時代の文化の特色について会話をしているものである。≪会話文≫の下線部ａ～ｅのうち，正しいものを○，誤っているものを×としたとき，正しい組合せを選びなさい。なお≪写真≫ａ～ｅと≪会話文≫の下線部ａ～ｅは対応しているものとする。

≪写真≫

ａ　平安時代の文化（源氏物語絵巻）

ｂ　平等院鳳凰堂



ｃ　かな文字への変化

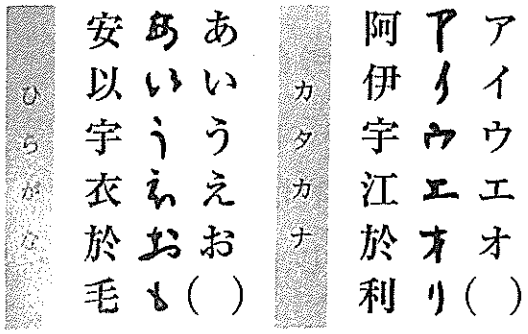

ｄ　万葉集



ｅ　正倉院宝物



≪会話文≫

まゆみ　奈良時代の天平文化と比べると，平安時代の文化は，大陸の状況が不安定で外国の文化の影響が弱まったことから，a日本の風土やくらしに合った，優美で洗練されたものになったみたいね。

ゆうた　そのころに藤原頼通によってつくられた平等院鳳凰堂は，b秘密の教えという意味がある密教によって，大日如来に帰依し，秘密の教義と儀礼を伝承によって伝えていくことを目的としていたね。

まゆみ　また，そのころには，日本の言葉や日本人の気持ちを表すのに適したかな文字が普及し，cひらがなは主に女性のあいだで使われ紫式部の「源氏物語」や清少納言の「枕草子」などの優れた作品が生み出されたね。

ゆうた　一方，奈良時代の天平文化では，すべて漢字で書かれた歌集が編纂され，dさまざまな身分の人がつくった和歌が約9000首ほど集められたね。

まゆみ　そうだね。シルクロードや海の道を通じて，e西アジアや南アジアの影響を受けた国際色豊かで華やかな宝物が正倉院に納められたことも有名だね。

	a	b	c	d	e
①	○	×	○	×	○
②	×	×	○	○	×
③	○	×	×	○	×
④	×	○	○	×	○
⑤	○	○	×	×	×

問12　次の≪資料≫は，日本の16～19世紀の主要事項を左から順に示している。≪資料≫の（　ア　）～（　オ　）には，≪世界で起こった主な出来事≫のａ～ｅのいずれかが入る。（　ア　）～（　オ　）に当てはまる正しい組合せを選びなさい。

≪資料≫

時代	（安土・桃山）							（江戸）							
主要事項	室町幕府滅亡	豊臣秀吉、全国統一	（ア）	江戸幕府成立	三十年戦争	鎖国	（イ）	ロシア、ピョートル一世即位	正徳の政治	享保の改革	清、乾隆帝即位	田沼時代	寛政の改革	（ウ）	（エ）	異国船打払令	（オ）	天保の改革	ペリー来航	日米修好通商条約

（山川出版社『詳説　日本史』をもとに作成）

≪世界で起こった主な出来事≫

a　ルイ14世フランス国王即位
b　ラクスマン，根室に来航
c　アヘン戦争
d　ナポレオン，フランス皇帝即位
e　文禄・慶長の役

	ア	イ	ウ	エ	オ
①	e	b	a	d	c
②	a	b	c	e	d
③	a	e	c	b	d
④	e	a	b	d	c
⑤	d	a	b	e	c

問13　次のア～オの各文は，≪資料≫中のア～オについてそれぞれ述べたものである。文の下線部ａ～ｅのうち，正しいものを○，誤っているものを×としたとき，正しい組合せを選びなさい。

ア　この頃，a日本列島改造論を掲げて，内閣を組織した。
イ　この頃，日本はb西ドイツを抜いて，資本主義諸国ではアメリカ合衆国に次ぐ世界第２位の国民総生産を実現した。
ウ　この頃，c第一次石油危機が起こる。
エ　この頃，政府・日本銀行はd金融緩和への転換，土地投機の抑制をはからざるをえなくなり，公定歩合が引き上げられ，不動産融資は抑制され，バブル崩壊に至った。
オ　この頃，アメリカ合衆国の大手融資銀行がeサブプライムローン証券による巨額の負債で経営破綻し，アメリカ合衆国・ヨーロッパで銀行の破綻が相次いだリーマン＝ショックが起こった。

≪資料≫日本の経済成長率（ＧＤＰ実質）の推移

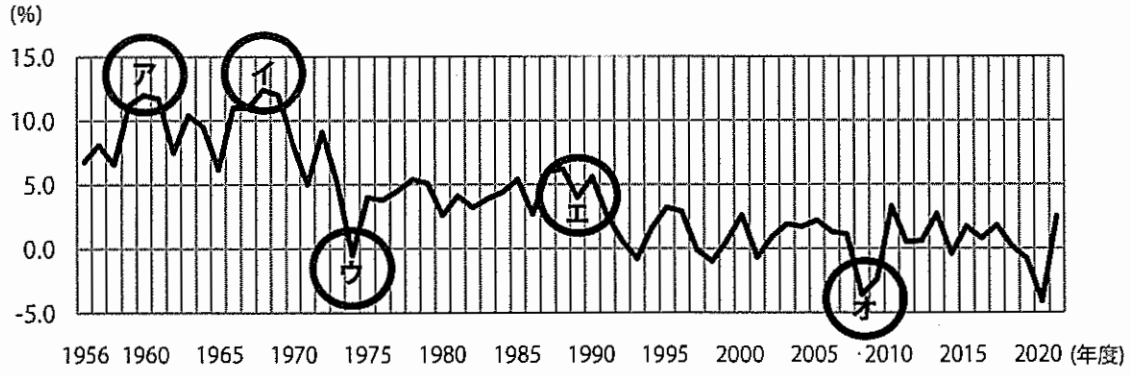

（内閣府　長期経済統計国民経済計算から作成）

	a	b	c	d	e
①	×	×	×	○	○
②	×	×	○	○	×
③	○	○	×	○	×
④	×	○	○	×	○
⑤	○	○	○	×	○

問14　次のア～オの各文は，フランス，アメリカ合衆国，ドイツ，日本，ソ連の５か国普通選挙への歩みを説明したものである。ア～オに示す内容について，正しいものを○，誤っているものを×としたとき，正しい組合せを選びなさい。

ア　フランスやアメリカやドイツの男性普通選挙は，日本の男性普通選挙よりも50年以上も早い。
イ　ドイツは，フランスとアメリカに次いで男性普通選挙を実現し，男女普通選挙が1919年と５か国の中で最も早い。
ウ　フランスの男女普通選挙が1945年となったのは，ヴァイマル憲法における女性の法的地位の低さと家族法制が大きく関わっている。
エ　日本は，1925年に男性普通選挙が実施された。
オ　ソ連は，男性普通選挙が行われないまま，男女普通選挙を日本やフランスよりも早く取り入れている。

	ア	イ	ウ	エ	オ
①	×	×	○	○	○
②	×	×	×	○	×
③	○	○	×	○	○
④	×	○	○	×	○
⑤	○	○	×	×	×

問15　次の文は情報化社会について，述べたものである。文の下線部ア～エのうち，正しいものを○，誤っているものを×としたとき，正しい組合せを選びなさい。

私たちはパソコンやスマートフォンによってさまざまな情報や知識を得ることができ，友だちや家族と連絡をとり合い，ゲームを楽しんだり買い物をしたりすることができる。情報通信技術によって社会の中で情報が大きなはたらきをもつようになることを$_{ア}$グローバル化という。このような進展は，防災や減災にも役立ち，例えば地震が発生したときに瞬時に情報を伝えてくれる。

図書・音声・映像などで得るのとはけた違いに多い情報が，デジタル情報として蓄積されているものをビッグデータという。それらを処理して活用するものの代表としてＡＩがある。ＡＩは$_{イ}$人工知能という意味である。ＡＩがさまざまな判断を行い，私たちの生活をより豊かにすることが期待されている。

ＳＮＳが広く利用されるようになって，他人に知られたくない個人の情報が多くの人に知られたり，私たちの行動が細かいところまでビッグデータとして記録されて監視されたりする危険性が指摘されている。私たちは，情報を正しく判断して利用・活用する力である$_{ウ}$情報モラルを身に付ける必要がある。さらに，近年は「デジタル技術の利用を通じて，社会に積極的に関与し，参加する能力」という意味をもつ，$_{エ}$デジタル・シティズンシップも求められている。

	ア	イ	ウ	エ
①	×	○	×	○
②	×	○	×	×
③	○	○	○	×
④	×	×	○	×
⑤	○	×	○	○

問16　次の文は，昼休みに学級で行うスポーツの種目について生徒同士が対立した場合に，教師が生徒に説明した内容である。（　ア　）～（　エ　）に当てはまる最も適切な語句の組合せを選びなさい。ただし，同じ記号には同じ語句が入る。

> 社会的存在である私たちは異なる個性や多様な考え方・価値観をもっていて，利害の違いがあることから，今日の話合いのようにサッカーにするか，バレーボールにするか，それともドッジボールをするかなど，考えや意見が対立してしまうことがあります。そのような場合に，お互いが強く主張ばかりしても意見はまとまりません。対立する双方が（　ア　）を得られることを（　イ　）といい納得できる解決策を話し合い，意見の一致をみる努力をしなければなりません。
>
> また対立から（　ウ　）への努力がなされるときに，効率と（　エ　）という見方や考え方があります。効率は無駄を省くという考え方です。（　エ　）はその際に手続きの不正や不利益を被る人はいないか，みんな同じ条件になっているかを考えることです。

	ア	イ	ウ	エ
①	利　益	公　平	合　意	包　摂
②	同　意	公　平	共　生	公　正
③	利　益	Win-Winの関係	共　生	包　摂
④	同　意	Win-Winの関係	共　生	公　正
⑤	利　益	Win-Winの関係	合　意	公　正

問17　次の文は「人権」の学習内容について，説明したものである。文の下線部ア～オのうち，正しいものを○，誤っているものを×としたとき，正しい組合せを選びなさい。

私たちが自由で人間らしい豊かな生活を送れるように，日本国憲法は，平等権，ア生活権，参政権などのイ基本的人権を保障している。こうした人権の保障は，一人一人をかけがえのない個人としてあつかうという「個人の尊重」の考え方（憲法第13条）に基づいている。

第13条には，次のように示してある。

> すべて国民は，個人として尊重される。生命，自由及び幸福追求に対する国民の権利については，公共の福祉に反しない限り，ウ司法その他の国政の上で，最大の尊重を必要とする。

個人の尊重の考え方は「エ法の下の平等」（憲法第14条第１項）と深く関係している。これはある人を特別に有利にあつかったり，不利にあつかったりすれば，個人の尊重が損なわれるからである。一人一人をかけがえのない個人として尊重するためには，全ての人々を平等にあつかうことが必要である。

第14条第１項には，次のように示してある。

> すべて国民は，法の下に平等であつて，人種，オ宗教，性別，社会的身分又は門地により，政治的，経済的又は社会的関係において，差別されない。

人権は，日本はもちろん，世界中の全ての人々に保障されるべきものである。どのような人間でも，生まれた人種や性別，身分などによって差別されたり，異なる意見をもっているからといって逮捕されたりするようなことがあってはならない。

	ア	イ	ウ	エ	オ
①	×	○	○	×	×
②	×	○	×	○	×
③	○	×	×	○	○
④	×	×	○	○	○
⑤	○	×	○	×	×

問18　次の文は，日本の中央銀行の働きと為替レートの仕組みについて，述べたものである。文の下線部ア～オのうち，正しいものを○，誤っているものを×としたとき，正しい組合せを選びなさい。

> 日本の中央銀行は，日本銀行であり，普通の金融機関とは異なる役割を果たしている。
>
> 日本銀行は，紙幣（日本銀行券）を発行できる唯一の$_{ア}$発券銀行である。また，政府のお金を出し入れする$_{イ}$国会の銀行でもある。さらに，$_{ウ}$銀行の銀行として金融機関から余ったお金を預かったり，お金が不足する金融機関に貸し出したりする。
>
> 為替レートは異なる通貨を交換する際の比率にあたる。
>
> 円高が進むと，主に商品を海外に輸出する企業にとっては同じ商品でも外貨での価格が上昇し，競争上$_{エ}$有利になる。日本の消費者にとっては，海外の商品が$_{オ}$安くなる。円安が進むと，その逆の現象が起こる。

	ア	イ	ウ	エ	オ
①	×	○	○	×	×
②	×	×	×	○	○
③	○	×	○	×	○
④	×	○	×	○	○
⑤	○	×	○	○	×

※以下の問題は記述問題とする。
次の 問19 ～ 問23 の解答は，全て「解答用紙（記述用）」に記入しなさい。

問19　東京都とその周辺の県では，地震や台風などの際，帰宅困難者が多くでることがある。その理由の一つを《資料Ⅰ》，《資料Ⅱ》を関連付けて答えなさい。

《資料Ⅰ》東京都とその周辺の県の昼夜間人口比率（2020年）

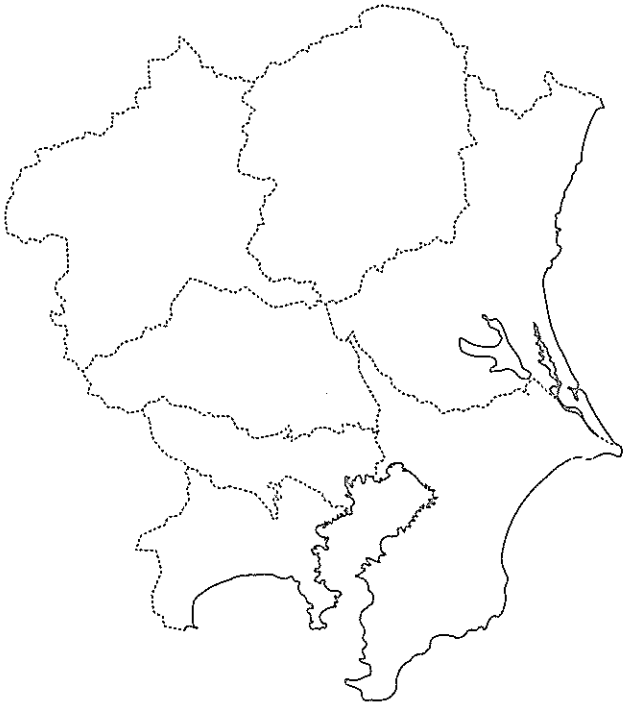

項目 / 都県	昼夜間人口比率
茨城県	97.6
栃木県	99.0
群馬県	100.0
埼玉県	87.6
千葉県	88.3
東京都	119.2
神奈川県	89.9

昼夜間人口比率
昼間人口÷夜間人口×１００

（「データでみる県勢2023」から作成）

《資料Ⅱ》県外に通勤・通学する人が利用する交通手段（令和２年）

利用交通手段 / 県	自家用車のみ	オートバイのみ	自転車のみ
埼玉県	10.9%	0.7%	1.3%
千葉県	8.7%	0.4%	0.4%
神奈川県	5.7%	0.6%	0.8%

（「令和２年国勢調査/従業地・通学地による人口・就学状態等集計」から作成）

問20　次の文は，ヨーロッパ世界の変容について述べたものである。（　a　）～（　d　）に当てはまる語句を答えなさい。ただし，同じ記号には同じ語句が入る。

カルパティア山脈の北方を原住地とする（　a　）人は，6世紀になると，大移動前にゲルマン人が住んでいたビザンツ帝国北方の広大な地域に急速に広がった。東（　a　）人・南（　a　）人はビザンツ文化とギリシア正教，西（　a　）人は西欧文化とローマ＝カトリックの影響を受けつつ，自立と建国の道を歩んでいった。

東（　a　）人（ロシア人・ウクライナ人など）が住むロシアでは，スウェーデン系ノルマン人がキエフ公国を建国したが，13世紀にバトゥの率いるモンゴル軍が侵入し，キプチャク＝ハン国を建てると約240年間モンゴルの支配に服した。

15世紀になると商業都市（　b　）を中心とした（　b　）大公国が急速に勢力を伸ばし，大公イヴァン3世の時代に東北ロシアを統一して，1480年にはモンゴルの支配から脱した。彼は諸侯の力を抑えて強大な権力を握り，ビザンツ帝国最後の皇帝の姪と結婚してローマ帝国の後継者を自任し，はじめてツァーリ（皇帝）の称号を用いた。

南（　a　）人の最大勢力であったセルビア人は，はじめビザンツ帝国に服属してギリシア正教に改宗したが，12世紀に独立し，14世紀前半には（　c　）半島北部を支配した。クロアティア人などは，西方のフランク王国の影響下でローマ＝カトリックを受け入れた。しかし，14世紀末以降にオスマン帝国の支配下におかれるようになった。

西（　a　）人（ポーランド人・チェック人など）は，西ヨーロッパの影響を受けてローマ＝カトリックに改宗した。ポーランド人は10世紀頃に建国し，14世紀前半にはカジミェシュ（カシミール）大王のもとで繁栄した。その後ポーランドと同君連合を結びヤゲウォ（ヤゲロー）朝（　d　）＝ポーランド王国をつくり，16世紀に最も強大となった。チェック人は，10世紀にベーメン（ボヘミア）王国を統一したが，11世紀には神聖ローマ帝国に編入された。

問21　中学校学習指導要領解説社会編（平成29年文部科学省）「第２章　社会科の目標及び内容」「第２節　各分野の目標及び内容」「１　地理的分野の目標，内容及び内容の取扱い」「（２）内容」「Ｃ　日本の様々な地域」には，「（４）地域の在り方」として，調査結果をまとめたり発表したりするに当たって基本的な記述の構成や仕方が示されている。

次の下線部ａ～ｅのうち，誤っているものを二つ選び記号で答え，それぞれの正しい語句を答えなさい。

１）調査の$_{a}$<u>動機</u>：なぜ，この主題を選んだのか，どんなことに興味や関心，疑問をもったのかを記述
２）調査の$_{b}$<u>目的</u>：この調査で何を知りたいのか，分かりたいのかを記述
３）調査の$_{c}$<u>方法</u>：いつ，どこで，どんな$_{c}$<u>方法</u>で何を調べていくのかを記述
４）調査の内容と結果の$_{d}$<u>表現</u>：調べて分かったことを調査前の予想と比べたり自分の解釈を加えたりして論述するとともに，地図や図表，写真などを入れて具体的に記述
５）感想や今後の$_{e}$<u>抱負</u>：調べて分かったことに対して，どんなことを感じたかを記述するとともに，もっと深めてみたい内容を記述
６）参考資料など：調査に用いたり，参考にしたりした書籍名などを記述

問22　次の≪資料≫，≪表①≫，≪表②≫は，国際連合の総会で世界が合意した目標と日本政府が定めた８つの優先課題についてまとめたものである。（　ア　）～（　オ　）に当てはまる語句を答えなさい。

≪資料≫

国際連合の総会では，世界が直面している様々な課題を解決するために，2015年に「（　ア　）（ＳＤＧｓ）」に合意した。ＳＤＧｓは「だれひとり取り残さない社会」を標語に，具体的な17の目標の達成に向けて，先進国も発展途上国も含めて世界中の国々が努力することが約束され，ＳＤＧｓの達成のために取り組んでいる。

日本の達成度は，2018年の調査では156か国中15位であった。しかし，「目標12：つくる責任つかう責任」の達成度は下から５番目であるなど，不十分な点も存在している。

≪表①≫日本の達成度の低い目標

目標	達成度の低い主な原因
	・女性の国会議員の割合 ・男女の賃金格差
	・電気電子機器の廃棄物の量 ・食料の輸入に伴う活性窒素の排出量
	・エネルギー生産に伴う二酸化炭素排出量 ・自動車以外での，炭素に対する課税の低さ
	・排他的経済水域での漁業資源の過剰利用
	・ＧＮＩに占める（　イ　）などでの無償資金提供の割合 ・金融に関する情報の秘匿

≪表②≫日本政府の定めた８つの優先課題

①あらゆる人々の活躍の推進

②健康・長寿の達成

③成長市場の創出，地域活性化，科学技術イノベーション

④持続可能で強靭な国土と質の高いインフラの整備

⑤省エネルギー・（　ウ　）エネルギー，気候変動対策，（　エ　）型社会

⑥（　オ　）性，森林，海洋等の環境の保全

⑦平和と安全・安心社会の実現

⑧ＳＤＧｓ実施推進の体制と手段

（日本文教出版「中学社会公民的分野」から作成）

問23　次の文は，貧困や格差の問題について述べたものである。この貧困や格差の問題を本質的に解決するためにフェアトレードとマイクロクレジットが注目されている。（1）～（3）の各問いに答えなさい。

> 貧困とは，１日の生活に使える金額が，1.9ドル未満の状態をいう。特に深刻なのが≪地図≫に示す地域である。貧困問題を解決するために食料や社会資本などの援助が行われてきた。今後は食料や社会資本の整備などの援助以外の取組としてフェアトレードやマイクロクレジットが注目されている。

≪地図≫　ＦＡＯ　ＨＵＮＧＥＲ　ＭＡＰ

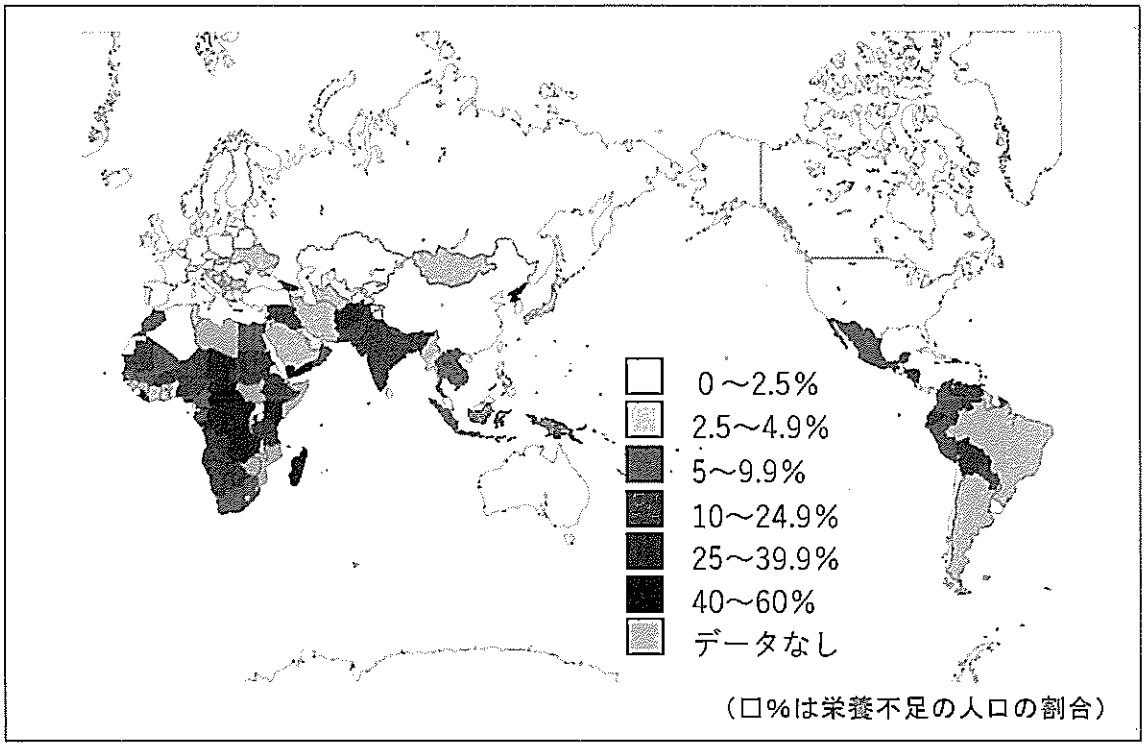

（ハンガーマップ　国連食糧農業機関（ＦＡＯ）の統計から作成）

（1）≪地図≫中に示す，栄養不足の人口の割合が多い国と少ない国との間にある貧困や格差の問題を漢字２文字で答えなさい。

（2）フェアトレードとマイクロクレジットの意味をそれぞれ答えなさい。

（3）フェアトレードとマイクロクレジットが注目されている理由を答えなさい。

解答用紙（記述用）

社　会	2の1

（令和６年度）

受験番号	氏　　名
第　　番	

問19

問20

a	
b	
c	
d	

問21

記号	語句

解答用紙（記述用）

社　会	2の2

（令和６年度）

受験番号	氏　　名
第　　番	

問22

ア			
イ		ウ	
エ		オ	

問23

（1）			問題
（2）	フェアトレード		
	マイクロクレジット		
（3）			

令和６年度福岡県公立学校教員採用候補者選考試験　解答及び配点

教科・科目：中学校社会科

	解　答	配　点		解　答	配　点
問１	③	5	問 32		
問２	④	5	問 33		
問３	①	5	問 34		
問４	④	5	問 35		
問５	⑤	5	問 36		
問６	③	5	問 37		
問７	①	5	問 38		
問８	②	5	問 39		
問９	②	5	問 40		
問 10	②	5	問 41		
問 11	①	5	問 42		
問 12	④	5	問 43		
問 13	④	5	問 44		
問 14	③	5	問 45		
問 15	①	5	問 46		
問 16	⑤	5	問 47		
問 17	②	5	問 48		
問 18	③	5	問 49		
問 19	記述	１５	問 50		
問 20	記述	１０	問 51		
問 21	記述	１０	問 52		
問 22	記述	１０	問 53		
問 23	記述	１５	問 54		
問 24			問 55		
問 25			問 56		
問 26			問 57		
問 27			問 58		
問 28			問 59		
問 29			問 60		
問 30			問 62		
問 31			問 63		

解答用紙（記述用）

社　会	2の1

（令和６年度）

受験番号	氏　　名
第　番	

問 19　15 点

東京都周辺の県から東京都へ、公共交通機関を使って通勤・通
学する人の割合が多いから。

問 20　10 点（a, b は各３点、c, d は各２点）

a	スラヴ
b	モスクワ
c	バルカン
d	リトアニア

問 21　10 点　　（記号と語句両解で５点）

記号	語句
d	考察
e	課題

解答用紙（記述用）

社　会	２の２

（令和６年度）

受験番号	氏　　名
第　番	

問 22　10 点　（各２点）

ア	持続可能な開発目標		
イ	ＯＤＡ	ウ	再生可能
エ	循環	オ	生物多様

問 23　15 点　（（１）２点（２）４点・４点（３）５点）

（１）	南	南	問題（「南北」も可）
（２）	フェアトレード 発展途上国や新興国の商品を適正（公正）な値段で購入すること。		
	マイクロクレジット 少額の融資を受けやすくすることで事業収入を得られるようにすること。		
（３）	貧しい国々の人々の経済的な（生活の）自立を		
	うながすことができるから。		

令和６年度

福岡県公立学校教員

採用候補者選考試験問題

高等学校　地理歴史

1　高等学校地理歴史の共通問題は下記のとおりです。受験者全員が解答してください。

　　択一問題　　問１から問10まで

2　高等学校地理歴史の専門問題は下記のとおりです。高等学校地理歴史（歴史）志願者は歴史の問題を，高等学校地理歴史（地理）志願者は地理の問題を選択してください。

（１）歴史

　　択一問題　　問11から問23まで

　　記述問題　　問24から問25まで

（２）地理

　　択一問題　　問26から問38まで

　　記述問題　　問39から問40まで

3　択一問題は，全て「ＯＣＲ解答用紙」に解答してください。

4　記述問題は，全て「解答用紙（記述用）」に解答してください。

※ 問1 ～ 問10 の解答は，全て①～⑤から一つ選び，「ＯＣＲ解答用紙」にマークしなさい。

地理歴史（共通）問題

問１　次の文は，高等学校学習指導要領（平成30年３月告示）「地理歴史」の科目「地理総合」の「内容の取扱い」の一部である。文中のア～ウの空欄に当てはまる語句の正しい組合せを選びなさい。

> 地図の読図や作図などを主とした（　ア　）的で具体的な体験を伴う学習を取り入れるとともに，各項目を関連付けて地理的（　イ　）が身に付くよう工夫すること。また，地図を有効に活用して事象を説明したり，自分の解釈を加えて論述したり，（　ウ　）したりするなどの活動を充実させること。

	ア	イ	ウ
①	地　学	判断力	討　論
②	作　業	判断力	討　論
③	作　業	技　能	討　論
④	地　学	技　能	考　察
⑤	地　学	判断力	考　察

問２　次の文は，高等学校学習指導要領（平成30年３月告示）「地理歴史」の科目「歴史総合」の「目標」の一部である。文中のア～ウの空欄に当てはまる語句の正しい組合せを選びなさい。

> 近現代の歴史の（　ア　）に関わる諸事象について，世界とその中の日本を広く相互的な（　イ　）から捉え，現代的な諸課題の形成に関わる近現代の歴史を理解するとともに，諸資料から歴史に関する様々な情報を適切かつ（　ウ　）的に調べまとめる技能を身に付けるようにする。

	ア	イ	ウ
①	展　開	視　野	効　果
②	展　開	特　色	効　果
③	展　開	特　色	分　析
④	変　化	視　野	効　果
⑤	変　化	視　野	分　析

問３　次の文は，高等学校学習指導要領（平成30年３月告示）「地理歴史」の科目「地理探究」の「目標」の一部である。文中のア～ウの空欄に当てはまる語句の正しい組合せを選びなさい。

> 地理に関わる事象の意味や意義，特色や相互の関連を，位置や分布，場所，（　ア　）と自然環境との相互依存関係，（　イ　）的相互依存作用，地域などに着目して，系統地理的，地誌的に，概念などを活用して多面的・多角的に考察したり，地理的な課題の解決に向けて構想したりする力や，考察，構想したことを効果的に説明したり，それらを基に（　ウ　）したりする力を養う。

	ア	イ	ウ
①	生　活	地　理	探　究
②	生　活	地　理	議　論
③	人　間	地　理	探　究
④	生　活	空　間	議　論
⑤	人　間	空　間	議　論

問４　次の文は，高等学校学習指導要領（平成30年３月告示）「地理歴史」の科目「歴史総合」・「日本史探究」・「世界史探究」の「目標」の一部である。文中のア～ウの空欄に当てはまる語句の正しい組合せを選びなさい。

> 社会的事象の歴史的な見方・考え方を働かせ，課題を（　ア　）したり解決したりする活動を通して，広い視野に立ち，（　イ　）化する国際社会に主体的に生きる平和で民主的な国家及び社会の有為な形成者に必要な（　ウ　）としての資質・能力を次のとおり育成することを目指す。

	ア	イ	ウ
①	追　究	グローバル	公　民
②	理　解	グローバル	公　民
③	理　解	グローバル	日本国民
④	理　解	ネットワーク	日本国民
⑤	追　究	ネットワーク	日本国民

問５　古代～近代の日朝の外交関係について述べた次の各文のうち，正しいものを選びなさい。

① 676年，朝鮮半島を統一した新羅は，初めは日本と良好な関係を保っていたが，橘諸兄が政権につくと新羅攻撃計画を実行しようとしたため，関係が急速に悪化した。

② 10世紀初めに高麗が新羅を滅ぼして朝鮮半島を統一すると，日本と国交を開いたため，一時途絶えていた使節や商人などの往来が活発となった。

③ 1392年，李成桂が高麗を滅ぼして朝鮮を建てると，対馬の宗氏を通して日朝貿易を行った。しかし，朝鮮で寧波の乱がおこると貿易は急速に衰えていった。

④ 1609年，対馬藩主宗氏と朝鮮は己酉約条を結び日朝貿易を再開した。宗氏は貿易船を朝鮮に派遣し，釜山に設置された倭館で貿易を行った。

⑤ 西郷隆盛・大久保利通らが征韓論を唱えたが，板垣退助らの反対にあい挫折した。西郷下野後，政府は江華島事件をおこし，翌年日朝修好条規を結び朝鮮を開国させた。

問６　原始～近世の日本における農業について述べた次の各文のうち，**誤っているもの**を選びなさい。

① 弥生時代，木製の鋤や鍬など耕作具が用いられ，収穫は石包丁による穂首刈りが行われた。木臼と竪杵を用いて脱穀を行い，収穫物は高床倉庫や貯蔵穴に納められた。

② 鎌倉時代，畿内や西国では麦を裏作とする二毛作が普及し，肥料には刈敷や草木灰が利用された。名主・百姓による小規模な開墾が積み重ねられ，牛馬耕も広がっていった。

③ 室町時代，全国各地で三毛作が行われるようになり，肥料は下肥も使われた。また，水稲の品種改良も進み，早稲・中稲・晩稲の作付けや輸入品種の大唐米が普及した。

④ 江戸時代，農業技術の改良が進み，深耕用の備中鍬，脱穀用の千歯扱，選別用の唐箕や千石篩，灌漑用の踏車などが普及した。干鰯などの金肥も利用が広がった。

⑤ 江戸時代，農業技術を教える農書が多数作られ，『清良記』をはじめ，宮崎安貞の『農業全書』や大蔵永常の『農具便利論』，『広益国産考』などが広く読まれた。

問７　フランス革命とナポレオンの台頭について述べた次の各文のうち，**誤っているもの**を選びなさい。

① フランスでは，きびしい身分制度があり，人口の９割以上を占める平民（第三身分）は，重税に苦しんでいた。

② 宮廷での浪費や対外戦争などによる深刻な財政危機を解決するために，国王ルイ16世が特権身分（聖職者・貴族）の承認を得て特権身分への課税を実施した。

③ 1789年におこったフランス革命は，やがて急進化し，王政が廃止されて共和政となり，1793年にはルイ16世が処刑された。

④ フランス革命のなかで，人間の自由・平等などを主張した人権宣言が採択されたが，革命側の内部抗争や，革命が拡大することを恐れた外国の干渉により，政治の混乱は深まった。

⑤ ナポレオン＝ボナパルトは政治の混乱をおさえて権力を握り，国民の絶大な支持を得て，周辺諸国の征服にも乗り出し，1804年には皇帝となった。

問８　第二次世界大戦について述べた次の各文のうち，正しいものを選びなさい。

① 1939年，ドイツはポーランドに侵攻した。これに対してイギリス・フランスはドイツに宣戦布告し，第二次世界大戦が始まった。

② ドイツと不可侵条約を結んだソ連はチェコスロヴァキアに侵攻し，チェコスロヴァキア・スウェーデン・バルト３国などを併合して領土を拡大した。

③ イタリアのムッソリーニはドイツの優勢をみて参戦にふみきり，1940年，日本・ドイツと日独伊三国防共協定を結び，日本との関係も強化した。

④ イギリスは，首相チャーチルのもと徹底抗戦を続けたが，ドイツの激しい空爆に屈して，ドイツ軍に本土上陸をゆるすこととなった。

⑤ ドイツはイギリスとの戦争終結後，1941年宣戦布告してソ連に侵攻を開始した。独ソ戦は両者とも多大な犠牲を出し，長期戦に突入した。

問９　地理情報システムと地図について述べた次の各文のうち，**誤っているもの**を選びなさい。

① GIS（地理情報システム）は，地理空間情報を記録し，表示，分析，管理するために使われるシステムで，地理空間情報の記録には，レイヤ（階層）が使われている。

② GISには，緯度・経度などの位置情報が不可欠であり，それを支える技術の１つが，アメリカ合衆国のガリレオなどに代表される全球測位衛星システム（GNSS）である。

③ 地上から離れた所から，陸上・海洋・大気などの現象を観測・探査するリモートセンシング（遠隔探査）とよばれる技術もGISを支えている。

④ 災害発生の危険度や想定される被害の大きさなどを示した地図をハザードマップといい，防災対策に活用されている。

⑤ 地理院地図は，電子国土基本図をパソコンやスマートフォンなどを用いて，インターネット経由で閲覧できるようにしたウェブサイトである。

問10　都市・居住問題について述べた次の各文のうち，**誤っているもの**を選びなさい。

① 低所得国では，農村から都市への人口移動が激しく，国内で最も人口の多い首位都市（プライメートシティ）に人口が集中し，２位以下の都市との間に大きな差が生まれる傾向にある。

② 発展途上国の都市では，受け入れ可能数以上の人口が流入したため，スラムが形成され，インフォーマルセクターとよばれる収入が低く不安定な仕事をして暮らす人も多い。

③ 先進国の大都市では，居住環境の悪化や地価の高騰のため，都心に近接する地域で人口が減少するドーナツ化現象が発生している。

④ 多くの先進国では，人口や産業活動の郊外への移転が進んだ結果，都心周辺地域で工業・商業の衰退や人口減少，居住環境の悪化などのインナーシティ問題があらわれた。

⑤ 欧米では，インナーシティの高所得地域に低所得層が流入するジェントリフィケーションがみられる。

※ 問11 ～ 問23 の解答は，全て①～⑤から一つ選び，「ＯＣＲ解答用紙」にマークしなさい。

※ 問24 ～ 問25 の解答は，全て「解答用紙（記述用）」に記入しなさい。

地理歴史（歴史）問題

問11　原始・古代の社会・文化について述べた次の各文の正誤を判断し，その組合せが正しいものを選びなさい。

1　弥生時代，死者は集落近くの共同墓地に葬られた。九州北部では支石墓や甕棺墓がみられ，中には中国製の銅鏡や青銅製の武器などを副葬したものもある。

2　古墳時代，農耕に関する祭祀は最も大切なものであった。春は穀物の豊作を神に祈る祈年の祭り，秋は収穫を感謝し新穀を神に捧げる新嘗の祭りが行われた。

3　天武・持統天皇の時代に仏教文化は急速に発展し，四天王寺や法隆寺が建立された。興福寺仏頭や薬師寺金堂薬師三尊像などは白鳳文化の代表的作品として知られる。

4　平安時代，有力貴族は一族子弟の教育のために大学別曹を設けた。和気氏の弘文院，藤原氏の勧学院，在原氏や皇族の奨学院，橘氏の学館院などが知られる。

	1	2	3	4
①	正	正	正	誤
②	誤	誤	正	誤
③	正	誤	正	正
④	誤	正	誤	正
⑤	正	正	誤	正

問12　平安時代の政治について述べた次の各文のうち，**誤っているもの**を選びなさい。

①　桓武天皇が推し進めていた蝦夷との戦いと平安京の造営の二大事業について，藤原緒嗣は天下の民を苦しめているのは軍事と造作であるとして事業中止を進言した。

②　嵯峨天皇のもとで法制の整備が進められた。貞観格式がこの時代に編纂されたほか，清原夏野らの『令集解』や惟宗直本の『令義解』もこの時代に編纂された。

③　藤原氏北家の良房は，承和の変で伴健岑・橘逸勢ら他氏族の勢力を退けた。その後，良房は幼少の外孫を清和天皇として即位させ，摂政として天皇の政務を代行した。

④　醍醐天皇の時代に荘園整理令の発令，村上天皇の時代に乾元大宝の発行など律令制の再建を目指す施策が行われ，後に延喜・天暦の治とたたえられた。

⑤　安和の変で左大臣源高明が失脚した後，藤原兼通と弟の兼家，藤原道長と甥の伊周のように，摂関家内部で争いがおこった。

問13　中世における学問について述べた次の各文のうち，正しいものを選びなさい。

① 鎌倉時代には公家の間で朝廷の儀式・先例を研究する有職故実が盛んとなり，その代表的な著作として順徳天皇の『愚管抄』がある。

② 鎌倉時代，武士たちも学問に関心をもつようになった。幕府の歴史を編年体で記した『吾妻鏡』も編まれたほか，北条実時は金沢文庫を設け，和漢の書物を集めた。

③ 鎌倉末期には朱熹が大成した宋学（朱子学）が伝えられたが，そのうちの本地垂迹説はのちに後醍醐天皇を中心とする討幕運動の理論的なよりどころとなった。

④ 15世紀には鎌倉公方の足利持氏が足利学校を再興し，高度な儒学教育が施された。のちに，宣教師フランシスコ＝ザビエルはこれを「坂東の大学」と称した。

⑤ 室町時代には『庭訓往来』や『御成敗式目』が武士の子弟の教科書として用いられた。また，一条兼良によって著された『節用集』が京都の饅頭屋によって出版された。

問14　次の各文は，江戸幕府が出した法令の一部である。次のア～オについて年代が古い順に正しく並べたものを選びなさい。

ア 「一，奉書船の外に，日本人異国え遣し申す間敷候。若し忍び候て乗まいり候ものこれあるに於ては，其ものは死罪，其船幷に船主共に留置，言上仕るべき事。」

イ 「一体いきりす二限らず，南蛮・西洋の儀は，御制禁邪教の国二候間，……二念無く打払ひを心掛け……油断無く申し付けらるべく候。」

ウ 「一，大名小名，在江戸交替，相定ル所也。毎歳夏四月中参勤致スベシ。」

エ 「一，……自今以後かれうた渡海の儀，これを停止せられ畢。此上若し差渡るにおゐては，其船を破却し，幷に乗来る者，速に斬罪に処せらるべきの旨，仰せ出さるるものなり。」

オ 「万石以上の面々より八木差し上げ候様二仰せ付けらるべしと思召し，……高壱万石二付八木百石積り差し上げらるべく候。」

①	ア → ウ → エ → オ → イ
②	ア → エ → オ → イ → ウ
③	ア → エ → イ → ウ → オ
④	エ → ア → オ → イ → ウ
⑤	エ → ア → イ → ウ → オ

問15　大正～昭和時代の政治について述べた次の各文のうち，正しいものを選びなさい。

① 第２次西園寺内閣が倒れ，桂内閣が成立すると，立憲政友会の犬養毅や立憲国民党の尾崎行雄らは「閥族打破・憲政擁護」を唱えて憲政擁護運動がおこった。

② 普通選挙法の成立や日ソ基本条約の締結が加藤高明内閣のもとで行われた。加藤首相の死後は浜口雄幸が組閣し，政友本党と合同して立憲民政党を結成した。

③ 陸軍青年将校のクーデタ未遂事件の後，井上準之助や団琢磨が血盟団事件で暗殺され，さらに海軍青年将校が首相官邸で犬養毅首相を殺害した五・一五事件をおこした。

④ 北一輝の国家改造論を信奉する陸軍統制派の青年将校らが軍部政権樹立を目指し，斎藤実内大臣や高橋是清大蔵大臣などを殺害する二・二六事件をおこした。

⑤ 新体制運動を展開する第２次近衛内閣のもとで，国家総動員法の制定や大政翼賛会の結成，日ソ中立条約の締結，帝国国策遂行要領が決定された。

問16　第二次世界大戦後の社会や文化について述べた次の各文のうち，**誤っているもの**を選びなさい。

① 理論物理学者の湯川秀樹は中間子論によって日本人で初めてノーベル賞を受賞し，同年には科学者の代表機関として，学術の発達などを目的とする日本学術会議が発足した。

② 社会派推理小説の松本清張や歴史小説の司馬遼太郎らが人気を博した。手塚治虫は本格的なストーリー漫画を創作し，その後の漫画・アニメーション隆盛の基礎をつくった。

③ エネルギー革命により石炭産業は安価な石油におされて衰退した。三井鉱山三池炭鉱では大量解雇に反対する激しい争議が展開されたが，労働者側の敗北に終わった。

④ プラザ合意でドル高の是正が合意されると円高が一気に加速し，輸出産業を中心に不況が深刻化した。この影響で株価と地価が暴落し，戦後初めてのマイナス成長となった。

⑤ 「戦後50年」の節目の年に，阪神・淡路大震災がおこり甚大な被害がもたらされた。同年，オウム真理教団による地下鉄サリン事件がおこり，社会全体に不安が広がった。

問17　古代オリエントの諸民族と統一について述べた次の各文のうち，**誤っているもの**を選びなさい。

① フェニキア人は，シドンやティルスなどの港市国家を拠点に，東地中海の商業交易にたずさわった。やがて西地中海にまで進出し，多くの植民市を建設した。

② アラム人は，ダマスカスなどを拠点に内陸での交易活動を行い，ロバやラクダを利用して大規模な隊商を組織し，イラン高原から中央アジアにまで達した。

③ ヘブライ人は，シリア南部で活動しはじめ，前11世紀末には王国を建設し，ソロモン王とそれに続くダヴィテ王の時代にはバビロンを中心に繁栄した。

④ アッシリア人は，前９世紀頃から，鉄製の武器と戦車を装備し，シリアやバビロニア，アナトリア東南部，イラン高原西北部を征服し，エジプトにまで進軍した。

⑤ アッシリアは，前７世紀前半にオリエントを支配したが，強制移住や重税などのために服属民の反感をまねき，帝国の統治は長くは安定しなかった。

問18　中国の諸子百家について述べた次の各文のうち，正しいものを選びなさい。

① 春秋時代末期の韓の思想家で，儒家の祖となった孔子は，家族道徳（仁）の実行を重視し，為政者にも仁徳をもって統治することを求めた。

② 孔子の思想を受けた孟子は，人は生来悪となりやすいので礼をもって導かねばならないとする性悪説の立場から，君主による民の教化を容認した。

③ 商鞅や韓非などの法家は，法律による統治を説き，斉や楚の強国化に貢献し，墨子を祖とする墨家は，博愛主義（兼愛）や善政（王道）を主張した。

④ 老子や荘子などの道家は，あるがままの自然に宇宙の原理（道）を求めて，政治を人為的なものとして否定した。

⑤ 兵家の孫子や呉子，外交術を駆使した縦横家の蘇秦や張儀，陰陽五行説を唱えた公孫竜，論理学派である名家の鄒衍なども登場し，時代の要請にこたえた。

問19　イスラーム世界の発展について述べた次の各文の正誤を判断し，その組合せが正しいものを選びなさい。

ア　８世紀中頃，コルドバを首都に後ウマイヤ朝が成立した。この王朝のもとイベリア半島では灌漑農業が発達し，コルドバをはじめ多くの都市が繁栄した。

イ　アッバース朝では，広大な版図を維持するため，全土を20余州に分け，サトラップ（総督）を任命し，徴税や治安維持を担わせた。

ウ　第４代正統カリフであったアリーの子孫だけに政治的指導権を認める勢力は，シーア派と呼ばれ，ウマイヤ朝やアッバース朝に対して，あいついで反乱をおこした。

エ　セルジューク朝のトゥグリル＝ベクは，10世紀半ばにバグダードに入城してファーティマ朝を追い，カリフからスルタンの称号を許されて，初のトルコ系王朝をきずいた。

オ　セルジューク朝のカラハン総督が自立したカラハン朝は，11世紀半ばにセルジューク朝が滅ぶと勢力を拡大し，中央アジアとイランを支配した。

	ア	イ	ウ	エ	オ
①	正	正	誤	正	正
②	正	誤	正	誤	誤
③	正	誤	正	誤	正
④	誤	正	正	正	誤
⑤	誤	正	誤	誤	正

問20　明について述べた次の各文のうち，**誤っているもの**を選びなさい。

①　紅巾の乱の指導者・朱元璋（洪武帝）は，金陵（現在の南京）を都とする明を建国し，元の残存勢力を長城の北に追いやった。

②　洪武帝は，人口と土地を調査して賦役黄冊や魚鱗図冊をつくり，税収の充実をはかるとともに，人々が守るべき六つの教訓・徳目を定めた六諭も公布した。

③　洪武帝の死後，孫の建文帝が即位したが叔父の燕王が反発し，宮廷内の宦官と組んで帝位を奪い（靖難の役），永楽帝となった。

④　永楽帝は，諸国に朝貢をうながして皇帝の威光を増すため，ムスリムの宦官である鄭和を指揮官とする南海大遠征を実施した。

⑤　モンゴル諸部は明への侵入をくりかえし，オイラトのアルタン＝ハンが明の万暦帝を北京近郊の土木堡で捕虜にする事件（土木の変）もおこった。

問21　宗教改革とカトリックの改革運動について述べた次の各文のうち，**誤っているもの**を選びなさい。

① 宗教改革は，ドイツのマルティン＝ルターが「95か条の論題」を発表し，贖宥状（免罪符）を批判したことが口火となった。

② ルターは教皇レオ10世に破門され，皇帝カール5世にヴォルムス帝国議会によびだされたが，自説を曲げなかったため，帝国追放処分を受けた。

③ 農民がミュンツァーらの指導のもとに大規模な一揆をおこし，領主制の廃止など社会変革を求めると，ルターは一貫してこれを支援し，諸侯への圧力を強めた。

④ スイスでは都市を基盤にして宗教改革が展開した。まず，ツヴィングリがチューリヒで，ついでカルヴァンがジュネーブで宗教改革に着手した。

⑤ スペインのロヨラらが創設したイエズス会は，厳格な規律と組織を持ち，カトリックの布教活動の主力となり，その活動はアジアやアメリカ大陸にまで及んだ。

問22　ムガル朝の興隆と文化について述べた次の各文のうち，正しいものを選びなさい。

① ティムール朝の王子バーブルは，ティムール朝が崩壊した後，中央アジアから北インドに入り，デリー＝スルタン朝の最後の王朝であるトゥグルク朝を破った。

② バーブルの孫アクバルは，アグラに都をおき，非ムスリムから人頭税を徴収せず，ヒンドゥー寺院の修復や新築を許可するなど，ヒンドゥー教徒への配慮を示した。

③ アウラングゼーブは，南端を除くインド亜大陸のほぼ全域を支配し，免税など非ムスリムへの懐柔政策を維持したので，反乱の少ない安定した時代をきずいた。

④ ムガル朝時代はイスラーム教徒とヒンドゥー教徒の融和が進み，２つの宗教を融合したような信仰も生まれた。パンジャーブ地方で普及したジャイナ教はその一つである。

⑤ ムガル朝の公用語はアラビア語であり，西アジアからアラビア語文化圏の教養を身につけた知識人が多く移住し，アズハル＝モスクなどイスラーム建築が建てられた。

問23　ロシア革命とソヴィエト政権の成立について述べた次の各文のうち，**誤っているもの**を選びなさい。

① ロシアでは，1917年，首都ペトログラードで労働者のストライキや兵士の反乱がおこり，各地に労働者や兵士のソヴィエト（評議会）が結成された。

② レーニンが亡命先から帰国して臨時政府批判を開始すると，ソヴィエト内部でレーニン支持が浸透し，臨時政府とソヴィエトのいわば二重権力状態が出現した。

③ 臨時政府首相ケレンスキーはボリシェヴィキを弾圧したが，1917年11月ボリシェヴィキは武装蜂起によって政権を獲得した。

④ レーニン率いる新政府は，「平和に関する布告」を発布し，無併合・無償金・民族自決の原則による和平を求めたが果たせず，譲歩のうえでドイツと単独講和を結んだ。

⑤ 1917年，憲法制定会議の選挙で第一党となったボリシェヴィキは，社会革命党と連立して新政府を組織した。

問24　我が国の近代的貨幣制度の端緒となった新貨条例の目的とその内容を70字以内（句読点を含む）で説明しなさい。

問25　４世紀前半のローマ帝国における宗教政策がどのように変化したか，関係する皇帝名と法令名を挙げて，70字以内（句読点を含む）で説明しなさい。

※ 問26 ～ 問38 の解答は，全て①～⑤から一つ選び，「ＯＣＲ解答用紙」にマークしなさい。
※ 問39 ～ 問40 の解答は，全て「解答用紙（記述用）」に記入しなさい。

地理歴史（地理）問題

問26　地震・火山活動について述べた次の各文のうち，**誤っているもの**を選びなさい。

① 地下の岩盤が割れ，割れた面に沿ってずれ動いている部分を断層といい，断層の活動が活発な活断層に沿った所で，地震が発生している。

② 海洋プレートが沈み込む境界で発生する海溝型地震は，津波を発生させることがある。2011年の東北地方太平洋沖地震では，東日本の太平洋沿岸一帯を大津波が襲った。

③ 火山が噴火すると，溶岩流などが放出され，溶岩台地や溶岩堰止湖，噴火の際の爆発・陥没で生じる円形の凹地であるカルデラなどの地形がつくり出される。

④ 火山にはさまざまな形状があり，溶岩の粘性が大きいと，爆発的な噴火が生じたり，楯状火山が形成されたりする。

⑤ 火山周辺は，溶岩が風化して肥沃な土壌が形成され，豊かな農業地帯となることもあり，また，高温のマグマによって熱せられた地下水や蒸気は地熱発電や温泉に利用されている。

問27　各気候区の特徴について述べた次の各文のうち，正しいものを選びなさい。

① サバナ気候区（Aw）においては，亜熱帯高圧帯が近づいたときには雨季となり，離れたときには熱帯収束帯の影響を受け，乾季となる。

② 夏に雨が多く，冬に少ない温暖冬季少雨気候（Cw）は，おもに大陸の東岸と，サバナ気候区から続く大陸内部にみられる。

③ 西岸海洋性気候（Cfb）は，おもに大陸西岸で，温帯の中では比較的低緯度にあたる緯度20 ～ 30度に分布する。四季を通じて温和な気候で，降水量は温帯の中では少ない。

④ 亜寒帯（冷帯）冬季少雨気候（Dw）は，ユーラシア大陸北東部のみに分布する。冬は太平洋高気圧の影響で降水量が少なく，極めて寒い。

⑤ ツンドラ気候（ET）は，北極海沿岸とチベット高原などに分布する。短い夏には月平均気温が10℃以上まで上がり，低木や草，コケ類，地衣類などがまばらに育つ。

問28　日本の自然環境と災害について述べた次の各文のうち，**誤っているもの**を選びなさい。

① 日本列島は，本州中部の糸魚川ー静岡構造線を境に，東北日本と西南日本に分けられる。西南日本は，さらに中央構造線を境にして，外帯と内帯に分かれる。

② 日本は，山地が国土面積の７割以上を占めており，人口は残り３割の平野に集中している。平野は，山地の侵食によってできた土砂を河川が下流に運んでつくられた。

③ 初夏には，梅雨前線が日本付近を北上して梅雨になる。夏には小笠原気団の勢力が強くなり，南東の季節風が吹いて熱帯並みの蒸し暑さになる。

④ 奄美大島以南は，年間を通じて高温多湿な南西諸島型になるが，海風が夏の暑さを和らげ，猛暑日になることはあまりない。

⑤ 氾濫には，河川の水があふれる内水氾濫と，降った雨が排水できずに低地に滞留する外水氾濫があり，都市部では，近年，内水氾濫が頻発している。

問29　次の表は，地域別森林面積の推移を示したものである。表のア～オに当てはまる地域の組合せが正しいものを選びなさい。

【表　地域別森林面積の推移（百万ha）（%は世界の森林面積に占める割合）】

地域	1980年		2019年	
ア	558.9	13.6%	621.4	15.3%
イ	712.0	17.4	640.6	15.8
ウ	155.7	3.8	1017.2	25.0
エ	157.1	3.8	185.2	4.6
オ	873.9	21.3	846.3	20.8
北アメリカ	709.7	17.3	753.0	18.5
ソ連	933.0	22.8	…	…
世界	4100.3	100.0	4063.8	100.0

※2019年のアジア・ヨーロッパには旧ソ連の地域をそれぞれ含む。

（データブック オブ・ザ・ワールド　2023年版による）

	ア	イ	ウ	エ	オ
①	アジア	南アメリカ	ヨーロッパ	アフリカ	オセアニア
②	南アメリカ	ヨーロッパ	オセアニア	アフリカ	アジア
③	アジア	アフリカ	ヨーロッパ	オセアニア	南アメリカ
④	南アメリカ	アフリカ	ヨーロッパ	オセアニア	アジア
⑤	アジア	ヨーロッパ	オセアニア	アフリカ	南アメリカ

問30　日本の農林水産業とその課題について述べた次の各文のうち，正しいものを選びなさい。

① 戦後の高度経済成長を経て，農業と他産業の間の所得格差が拡大し，農業就業人口は著しく減少したが，現在では主業農家の割合が高く，副業的農家の割合は低い。

② 減少を続ける農業の担い手を確保するため，日本政府は2000年代に農地法を大幅に改正し，農家以外の民間企業などが農地を利用することを認めた。

③ 農産物の生産だけでなく，その加工や流通・販売にも農家や地域の人々が関わり，所得や雇用の増大をめざす３次産業化の試みも盛んになっている。

④ 日本の林業は，2000年代に入ると，かつて大規模に植林した森林が成長して利用できるようになったが，自給率は改善していない。

⑤ 日本の漁獲量の４割以上は，排他的経済水域内で操業される沿岸漁業によるもので，日本各地に拠点となる漁港がある。

問31　次の表は，石炭（2019年）・原油（2020年）・天然ガス（2020年）・鉄鉱石（2018年）・ボーキサイト（2018年）の産出量上位５か国とその割合を示したものである。表のア～オに当てはまる組合せが正しいものを選びなさい。

	ア	イ	ウ	エ	オ
1位	アメリカ合衆国 (23.7%)	オーストラリア (26.4%)	中　国 (54.8%)	オーストラリア (36.7%)	アメリカ合衆国 (15.4%)
2位	ロシア (18.1%)	中　国 (24.2%)	インド (10.4%)	ブラジル (19.3%)	ロシア (13.3%)
3位	イラン (5.8%)	ギニア (17.4%)	インドネシア (8.8%)	中　国 (13.8%)	サウジアラビア (12.7%)
4位	中　国 (4.8%)	ブラジル (8.9%)	オーストラリア (6.2%)	インド (8.3%)	イラク (5.5%)
5位	カナダ (4.6%)	インド (7.0%)	ロシア (5.1%)	ロシア (3.7%)	中　国 (5.4%)

（データブック オブ・ザ・ワールド　2023年版による）

	ア	イ	ウ	エ	オ
①	原　油	鉄鉱石	石　炭	ボーキサイト	天然ガス
②	原　油	ボーキサイト	鉄鉱石	石　炭	天然ガス
③	天然ガス	鉄鉱石	石　炭	ボーキサイト	原　油
④	天然ガス	ボーキサイト	鉄鉱石	石　炭	原　油
⑤	天然ガス	ボーキサイト	石　炭	鉄鉱石	原　油

問32　世界の工業について述べた次の各文のうち，**誤っているもの**を選びなさい。

① 自動車工業は，関連工場や下請工場が１つの地域に集中する傾向が強く，フランスのミュルーズや愛知県豊田市などは，企業城下町を形成している。

② 鉄鋼生産では，中国の発展がめざましく，韓国やインドも主要な鉄鋼生産国に成長しており，日本を含めてアジアの割合が高くなっている。

③ 石油化学工業は，原料の輸入に便利な臨海部に立地する傾向にあり，オランダのユーロポートやアメリカ合衆国のヒューストン港が代表的である。

④ サードイタリーとよばれるイタリア北東部では，大規模工場が集積し，タラントなどに臨海指向の銑鋼一貫製鉄所が建設されている。

⑤ 日本は1990年頃までは，家電の世界的生産国だったが，国内には開発や高級モデルの製造拠点などを残すのみとなり，生産機能の多くはアジアの新興工業国に移った。

問33　次の表は，中国・日本・アメリカ合衆国・ロシア・EU27か国の輸送機関別旅客輸送と貨物輸送を示したものである。ア～オに当てはまる国・地域の組合せが正しいものを選びなさい。

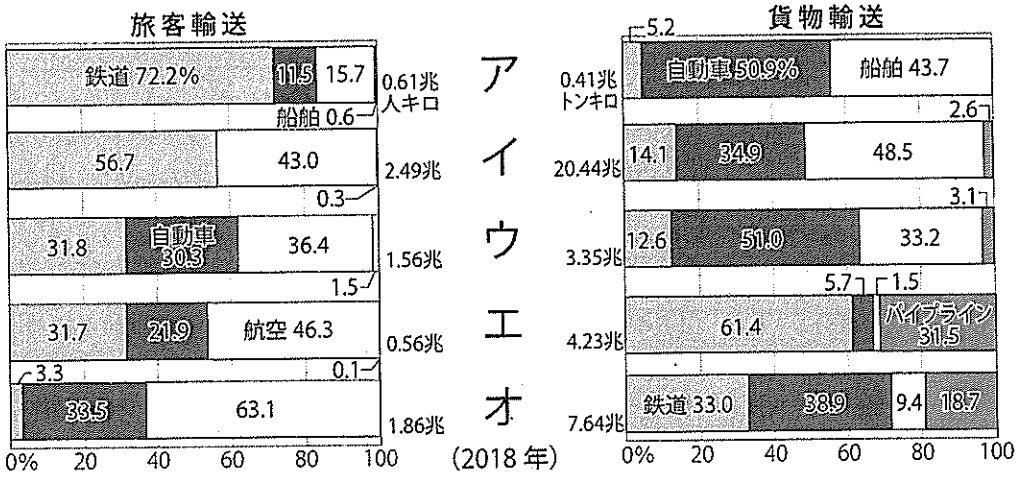

＊EU27か国はイギリスを除く。
旅客輸送の自動車はバス，トロリーバス，長距離バスの値。自家用車は含まない。

［出所：EU Transport 2020ほか］

	ア	イ	ウ	エ	オ
①	中　国	日　本	EU27か国	アメリカ合衆国	ロシア
②	日　本	中　国	ロシア	EU27か国	アメリカ合衆国
③	日　本	中　国	EU27か国	ロシア	アメリカ合衆国
④	中　国	日　本	アメリカ合衆国	ロシア	EU27か国
⑤	中　国	EU27か国	日　本	アメリカ合衆国	ロシア

問34　次の表は，日本・韓国・フランス・スウェーデン・アメリカ合衆国の女性の年齢別労働力率を示したものである。ア～オに当てはまる国の組合せが正しいものを選びなさい。

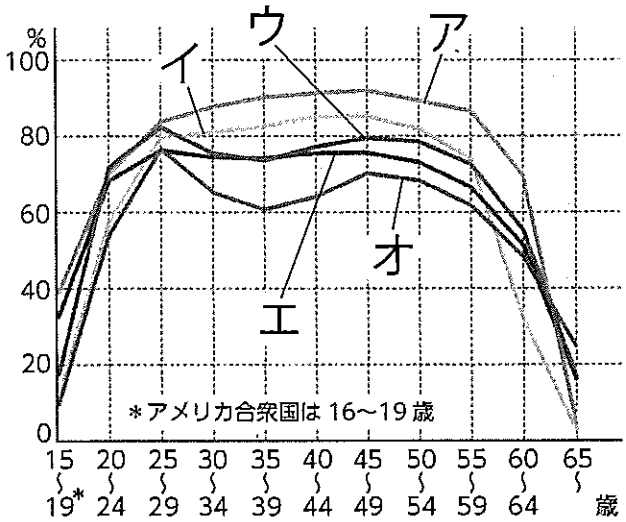

(2018年)〔ILOSTAT〕

	ア	イ	ウ	エ	オ
①	フランス	スウェーデン	アメリカ合衆国	日　本	韓　国
②	フランス	アメリカ合衆国	韓　国	スウェーデン	日　本
③	スウェーデン	フランス	韓　国	アメリカ合衆国	日　本
④	スウェーデン	フランス	日　本	アメリカ合衆国	韓　国
⑤	アメリカ合衆国	フランス	スウェーデン	日　本	韓　国

問35　国家の領域と領土問題について述べた次の各文のうち，正しいものを選びなさい。

① 南極大陸では，国際連合の全加盟国が締約している南極条約により，南極地域の平和的利用や領有権主張の凍結などが定められている。

② 日本とソ連は，サンフランシスコ平和条約により国交を回復したが，北方領土問題は未解決のままで，ソ連を継承したロシアとの間で返還と平和条約締結の交渉が続いている。

③ 島根県に属する日本海上の竹島は，日本固有の領土であるが，中国によって不法に占拠されており，日本はこれに抗議を続けている。

④ 東シナ海上の尖閣諸島は，韓国が領有権を主張しているが，日本が固有の領土として実効的な支配を続けており，領土問題は存在しない。

⑤ 日本の排他的経済水域は，豊富な水産資源に恵まれるほか，沿岸の大陸棚には天然ガスやマンガン，メタンハイドレートなどの資源の埋蔵が確認されている。

問36　朝鮮半島について述べた次の各文のうち，**誤っているもの**を選びなさい。

① 朝鮮半島では，きびしい冬の寒さに対応するため，かまどの火で温めた空気を床下に送るオンドルという伝統的な床暖房が利用されてきた。

② 朝鮮半島では，朝鮮王朝の時代を支えた儒教の影響は大きく，現在でも，親族どうしの結び付きの強さや，祖先を崇拝し，年長者を敬う習慣などがみられる。

③ 1960年代後半以降，韓国では工業化による経済成長が著しく，「漢江の奇跡」とよばれ，その結果，台湾や香港，マレーシアとともにアジアNIEsを形成するようになった。

④ 韓国では，経済発展に加えて教育を重視する考え方から，主要企業の本社や有名大学の多いソウル首都圏に人口が一極集中している。

⑤ 北朝鮮は社会主義を掲げ，朝鮮労働党による一党独裁体制を続け，体制維持のために軍備の増強や核開発も続けており，周辺国の脅威になっている。

問37　アフリカについて述べた次の各文のうち，正しいものを選びなさい。

① サハラ砂漠の北側は，アラブ民族とイスラームの世界で，植民地時代には宗主国のフランス語や英語などが普及したが，独立後はスワヒリ語が公用語となっている。

② 北アフリカは，西アジアと並ぶ産油地帯であり，なかでもエジプトとアルジェリアはOPECに加盟しており，原油と天然ガスが輸出総額の多くを占める。

③ サハラ以南アフリカでは，植民地期のプランテーション農業の影響で，ガーナの茶，ケニアのコーヒー，セネガルの落花生などが主要な輸出品となっている。

④ サハラ以南アフリカでは，21世紀になってから将来の成長市場として，ヨーロッパやアメリカ合衆国以外からの投資が増加しており，貿易額や投資額では中国の伸びが著しい。

⑤ ロシアは，銅の輸出のために整備されたタンザン鉄道やベンゲラ鉄道への建設支援などで築いたアフリカ諸国との友好関係をさらに深めている。

問38　ロシアについて述べた次の各文のうち，**誤っているもの**を選びなさい。

① ロシアでは，いくつかの地域で民族対立がみられ，カトリックが多数を占めるカフカス地方のチェチェン人のなかには，分離独立を主張する勢力がある。

② ロシアでは，たいていの都市住民は郊外にダーチャとよばれる別荘をもっており，週末を利用して自家消費用の野菜をつくっている。

③ ソ連時代の農業は，国営農場のソフホーズや集団農場のコルホーズによって生産が共同化されていたが，ロシアへの移行後は，国営農場は改編され民間経営に変わった。

④ 近年，ロシアは極東地方の開発を国家の重要政策にかかげており，ハバロフスクなどに新型の経済特区を，ウラジオストクに自由港を設けている。

⑤ 2000年以降，ロシアでは原油・天然ガスなどの資源開発がすすめられ，経済は大きく発展し，BRICSの一国に数えられるようになった。

問39　ヒートアイランド現象があらわれる要因と特徴，またその影響について，70字以内（句読点を含む）で説明しなさい。

問40　ファブレス企業の特徴とその利点について，70字以内（句読点を含む）で説明しなさい。

解答用紙（記述用）

地理歴史（歴　史）	1の1

（令和６年度）

受験番号	氏　　名
第　　番	

問24

10　20

問25

10　20

解答用紙（記述用）

地理歴史 （地　理）	1の1

（令和６年度）

受験番号	氏　　名
第　　番	

問39

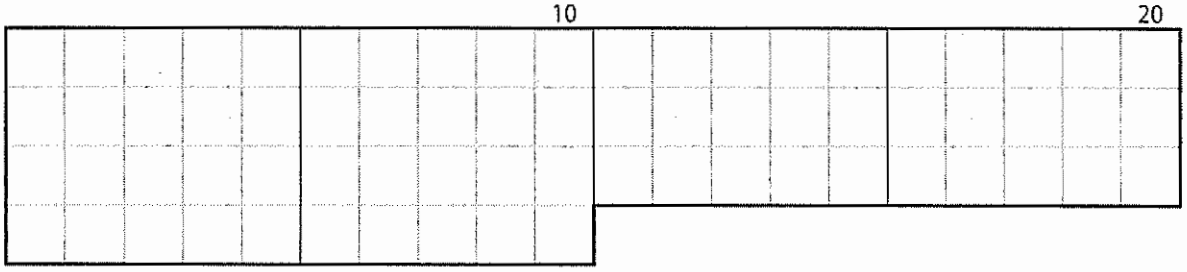

問40

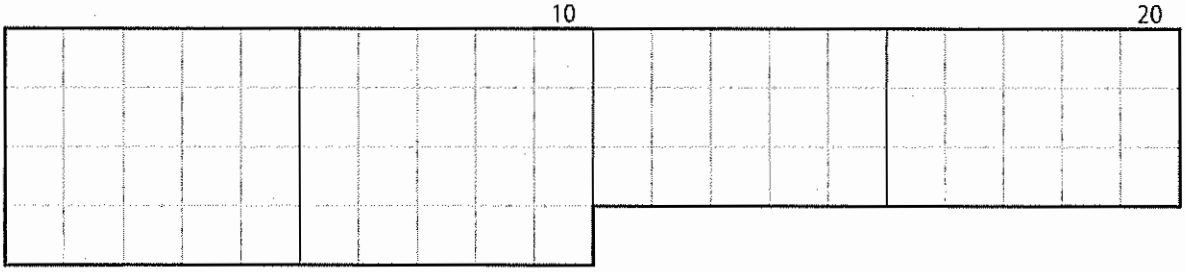

令和6年度　福岡県公立学校教員採用候補者選考試験　解答及び配点

教科・科目　　地理歴史

	解　答	配　点		解　答	配　点
問１	③	4	問２６	④	7
問２	④	4	問２７	②	7
問３	⑤	4	問２８	⑤	7
問４	①	4	問２９	③	7
問５	④	4	問３０	②	6
問６	③	4	問３１	⑤	7
問７	②	4	問３２	④	6
問８	①	4	問３３	③	7
問９	②	4	問３４	④	7
問１０	⑤	4	問３５	⑤	6
問１１	⑤	6	問３６	③	6
問１２	②	7	問３７	④	6
問１３	②	7	問３８	①	6
問１４	①	7	問３９	記述	13
問１５	③	7	問４０	記述	12
問１６	④	6	問４１		
問１７	③	7	問４２		
問１８	④	6	問４３		
問１９	②	6	問４４		
問２０	⑤	7	問４５		
問２１	③	7	問４６		
問２２	②	6	問４７		
問２３	⑤	6	問４８		
問２４	記述	13	問４９		
問２５	記述	12	問５０		

解答用紙（記述用）

地理歴史 （　　）	

（令和６年度）

受験番号	氏　　名
第　　番	解　答　例

問 24（13 点）

10　　20

新貨条例は幕末以来の貨幣制度を改め，金本位制で
に基づく統一的な貨幣を確立する目的・銭
1 8 7 1 年に制定された，十進法による円
・厘の単位を定めた。

問 25（12 点）

10　　20

ディオクレティアヌステ帝はキリスト教を迫害の
したが，コンスタンスト教を公認し，その発展
ミラノ勅令で キリスト 3 1 3 年の発展
を支援した。

問 39（13 点）

10　　20

人工熱の排出や緑地の減少により，気温が高で
い地域が都心部に島状に現れる現象豪雨の こと 一因
局地的に積乱雲が発達し，ゲリラ
となっている。

問 40（12 点）

10　　20

生産コストを削減する ため，多大な設備投資品
を必要とする生産部門を 切り離し，自社製画
の生産を他社に委託する こと で，商品の企
・開発に特化できる。

令和６年度

福岡県公立学校教員

採用候補者選考試験問題

高等学校　公　民

1　高等学校公民の問題は下記のとおりです。
　　択一問題　　問１から問27まで
　　記述問題　　問28から問30まで

2　択一問題は，全て「ＯＣＲ解答用紙」に解答してください。

3　記述問題は，全て「解答用紙（記述用）」に解答してください。

問１ ～ 問27 の解答は，全て①～⑤から一つ選び，「ＯＣＲ解答用紙」にマークしなさい。

問１　次の文は，「高等学校学習指導要領」（平成30年３月告示）「第２章　各学科に共通する各教科」「第３節　公民」「第１款　目標」の一部である。文中の（　ア　）～（　エ　）の空欄に当てはまる語句の正しい組合せを選びなさい。

(1)　選択・（　ア　）の手掛かりとなる概念や（　イ　）及び倫理，政治，経済などに関わる現代の諸課題について理解するとともに，諸資料から様々な（　ウ　）を適切かつ効果的に調べまとめる（　エ　）を身に付けるようにする。

	(ア)	(イ)	(ウ)	(エ)
①	考察	理論	根拠	方法
②	考察	枠組み	根拠	技能
③	判断	理論	根拠	技能
④	判断	枠組み	情報	方法
⑤	判断	理論	情報	技能

問２　次の文は，「高等学校学習指導要領」（平成30年３月告示）「第２章　各学科に共通する各教科」「第３節　公民」「第２款　各科目」「第１　公共」「２　内容」「Ｃ　持続可能な社会づくりの主体となる私たち」の一部である。文中の（　ア　）～（　オ　）の空欄に当てはまる語句の正しい組合せを選びなさい。

持続可能な地域，国家・社会及び国際社会づくりに向けた役割を担う，公共の精神をもった自立した主体となることに向けて，幸福，（　ア　）などに着目して，現代の諸課題を（　イ　）する活動を通して，次の事項を身に付けることができるよう指導する。

ア　（　ウ　）の創造，よりよい国家・社会の構築及び平和で安定した国際社会の形成へ主体的に参画し，共に生きる社会を築くという観点から課題を見いだし，その課題の解決に向けて事実を基に（　エ　）して考察，構想し，妥当性や効果，（　オ　）などを指標にして，論拠を基に自分の考えを説明，論述すること。

	(ア)	(イ)	(ウ)	(エ)	(オ)
①	正義，公正	探究	地域	協働	実現可能性
②	対立，協調	探究	地域	対話	客観性
③	正義，公正	追究	地域	対話	実現可能性
④	対立，協調	追究	共同体	協働	客観性
⑤	対立，協調	追究	共同体	対話	実現可能性

問３　次の文は，「高等学校学習指導要領」（平成30年３月告示）「第２章　各学科に共通する各教科」「第３節　公民」「第３款　各科目にわたる指導計画の作成と内容の取扱い」の一部である。文中の（　ア　）～（　エ　）の空欄に当てはまる語句の正しい組合せを選びなさい。

> ２　内容の取扱いに当たっては，次の事項に配慮するものとする。
> ～中略～
> (3)　社会的事象等については，生徒の（　ア　）が深まるよう様々な見解を提示するよう配慮し，多様な見解のある事柄，（　イ　）な事柄を取り上げる場合には，有益適切な（　ウ　）に基づいて指導するとともに，特定の事柄を強調し過ぎたり，一面的な見解を十分な配慮なく取り上げたりするなどの（　エ　）取扱いにより，生徒が多面的・多角的に考察したり，事実を客観的に捉え，公正に判断したりすることを妨げることのないよう留意すること。

	(ア)	(イ)	(ウ)	(エ)
①	学習	不安定	資料	不平等な
②	学習	未確定	教材	不平等な
③	考え	不安定	資料	不平等な
④	考え	未確定	教材	偏った
⑤	考え	不安定	教材	偏った

問４　次の利害対立と調整に関する記述のうち，誤っているものを選びなさい。

① 自分の利益を最優先する個人には，相手を裏切るインセンティブがあると考えられるため，互いに足を引っ張りあうことで協働の利益を失ってしまうことが起こりやすい。

② 市場が完全に機能する状態では，人々の自由な意思決定のもとで交渉が行われるため，市場は，強制力に頼らず，利害調整を行うことのできる制度といえる。

③ 市場社会においては，市場の効率性と社会全体の公平性のどちらを取るべきかという，「囚人のジレンマ」が大きな課題であるといえる。

④ 社会契約説は，自然状態における自然権を，人々が，自ら政治共同体としての国家に引きわたし，強制力を受け入れることで利害対立の調整を行うという点で，国家の正統性を見いだす思想である。

⑤ 法の強制力によって，税を通じて再分配を行ったり，防衛や教育などの公共財を提供したりすることなどで国家が利害の調整を行っている。

問５　次の青年期と自己形成に関する記述のうち，正しいものを選びなさい。

① エリクソンは，大人としての責任を一時的に猶予される青年期の状態を，心理・社会的モラトリアムとよんだ。

② アーレントは，現代社会を，かつて「あたりまえ，ふつう」とされた社会の仕組みや人生のモデルが流動化している状態であると捉えた。

③ レヴィンは，著書である『エミール』の中で，自我に目覚める青年期の特徴を第二の誕生と表現した。

④ マズローは，青年期の発達課題として，市民として必要な知識と態度を身に付けることなど10項目をあげ，これらを解決することでアイデンティティの確立が図られるとした。

⑤ ホリングワースは，青年期を，子どもと大人の時期にはさまれた，どちらにも属さない中間的な存在であることから，「マージナル・マン（境界人）」とよんだ。

問６　次の文章に示されている考え方を説いた人物を選びなさい。

> 私はこの自己本位という言葉を自分の手に握ってから大変強くなりました。彼ら何者ぞやと気概が出ました。今まで茫然と自失していた私に，ここに立って，この道からこう行かなければならないと指図をしてくれたものは実にこの自己本位の四字なのであります。

① 夏目漱石　② 小林秀雄　③ 山鹿素行　④ 内村鑑三　⑤ 森鷗外

問７　次の世界の主な政治体制に関する記述のうち，誤っているものを選びなさい。

① 議院内閣制では，国民が国会議員を選挙で選び，議会の全議席の過半数を占める政党または政党集団が内閣を組織し，行政権を行使する。

② 大統領制は，行政権の長としての大統領と立法府に属する議員の両方を有権者がそれぞれ選び，大統領と議会が互いに抑制・均衡し合う仕組みである。

③ イギリスの議会は，終身議員からなる上院（貴族院）と，国民が選挙で選んだ議員からなる下院（庶民院）によって構成され，上院に対する下院優位の原則が確立している。

④ 各州住民の直接選挙によって４年間の任期で選ばれるアメリカの大統領は，軍の最高司令官であり，議会を解散する権限をもっている。

⑤ 中国における最高の決定機関は，毎年１回開催される一院制の全国人民代表大会であり，この下に国務院と最高人民法院が設けられている。

問８　次の明治憲法及び日本国憲法の基本原理に関する記述のうち，正しいものを選びなさい。

① 明治維新後，憲法の制定を求める声が高まり，吉野作造が「東洋大日本国国憲按」を起草するなど，民間によって欽定憲法が作成された。

② 明治憲法は，天皇大権があることが前提であり，憲法の中で認められた権利は「臣民の権利」とされ，法律によって制限できるものとされたため，統帥権も制限された。

③ 自由民権運動を背景に議会で政党が台頭し，明治時代末から大正時代初期にかけて，日本でも政党内閣と政権交代が「憲政の常道」として確立した。

④ 日本国憲法では，象徴としての天皇は国政に関する権能をもたず，内閣の助言と承認の下に一定の国事行為のみを行うものとされた。

⑤ 日本国憲法の改正には各議院の総議員の４分の３以上の賛成で国会がこれを発議し，国民投票で３分の２以上の賛成を得なければならないとされている。

問９　次の日本国憲法により保障されている基本的人権に関する記述のうち，正しいものを選びなさい。

① 女性の権利を保障する女子差別撤廃条約を批准するため，1985年に男女共同参画社会基本法が制定され，1999年には男女雇用機会均等法が制定された。

② 人が自らの自由を実現するためには，生活に必要な手段が安定して得られることが必要なため，職業を選択する自由や財産権は制限なく保障されている。

③ 憲法第26条では，全ての国民が「その能力に応じて，ひとしく教育を受ける権利を有する」と定め，憲法の理念を教育の場で生かすために教育基本法が制定された。

④ 環境権が主張される根拠として，憲法第13条に定められる損害賠償請求権や，憲法第14条に定められる請願権があげられる。

⑤ 国民の知る権利を保障するため，個人情報保護法が制定されたが，同時に，知る権利の濫用を防ぐ目的で，特定秘密保護法が制定された。

問10　次の国会及び内閣に関する記述のうち，誤っているものを選びなさい。

① 常会（通常国会）は毎年１回，１月に召集され，臨時会（臨時国会）は内閣，またはいずれかの議院の総議員の４分の１以上の要求で召集される。

② 衆参両議院はアメリカにならって委員会制度を採用しており，議員はいずれかの常任委員会に所属し，議案の審議にあたる。

③ 衆議院が解散されたときは，解散の日から60日以内に衆議院議員の総選挙を行い，その選挙の日から40日以内に国会を召集しなければならない。

④ 衆議院が内閣不信任案を可決した場合には，内閣は10日以内に衆議院の解散をしない限り，総辞職しなければならない。

⑤ 内閣総理大臣は国会議員の中から国会が指名するが，国務大臣は内閣総理大臣が任命し，その過半数は国会議員でなければならない。

問11　次の日本の選挙制度に関する記述のうち，誤っているものを選びなさい。

① 衆議院議員選挙の制度は，長い間中選挙区制がとられてきたが，1994年に小選挙区制とブロック単位の比例代表制とを組み合わせた小選挙区比例代表並立制が導入された。

② 公職選挙法では，立候補を届け出る前の選挙運動や戸別訪問を禁止しているが，2013年にインターネットを利用した選挙運動が解禁された。

③ 選挙区ごとの一票の価値の比率（一票の格差）は，裁判所による違憲判決は出たことはないが，投票権の平等という原則から，改善すべき問題として指摘されている。

④ 2015年に公職選挙法が改正され，選挙権年齢が満18歳以上に引き下げられた。今後，若い世代が国政のあり方に関する決定に積極的に関わっていくことが期待されている。

⑤ 小選挙区制は少数派の票が死票となり，議席に結びつかず，比例代表制は少数派の意見も議席数に反映されるが，小党分立をまねきやすいという面もある。

問12　次の説明文と資料は地方財政に関して調べたものである。説明文中の（　ア　）～（　エ　）の空欄に当てはまる語句の正しい組合せを選びなさい。ただし，同じ記号には同じ語句が入るものとする。

【説明文】

東京都は，（　ア　）の割合が他の県より高いことから，自主財源の割合が高いことがわかる。A県やB県は，国からの資金で使途を自主的に決定できる（　イ　）や，地方公共団体の借金である（　ウ　）の割合が高いことがわかる。2000年代には，国から地方への税源の移譲や国庫支出金の削減などの（　エ　）が行われた。

【資料】

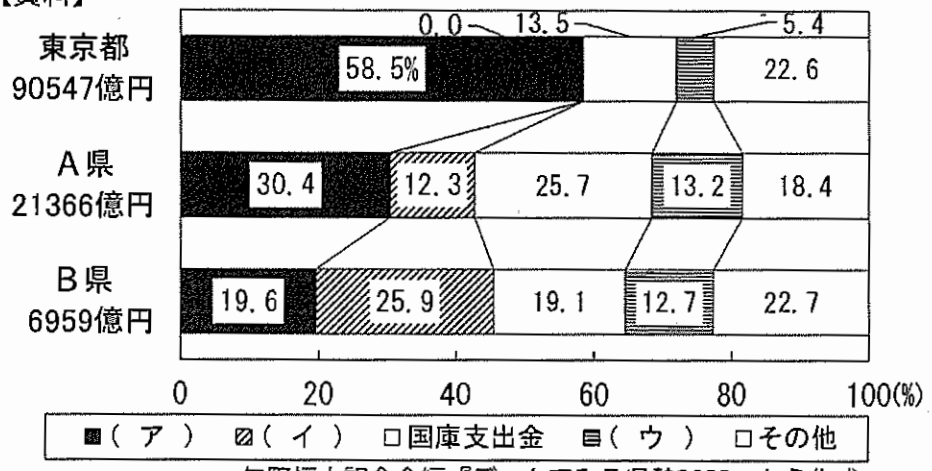

矢野恒太記念会編『データでみる県勢2023』から作成。

	(ア)	(イ)	(ウ)	(エ)
①	地方税	地方交付税	地方債	三位一体の改革
②	地方税	地方債	地方交付税	三位一体の改革
③	地方税	地方債	地方交付税	日本版ビッグバン
④	国税	地方交付税	地方債	日本版ビッグバン
⑤	国税	地方債	地方税	日本版ビッグバン

問13　次の国際連合に関する記述のうち，正しいものを選びなさい。

① 国際連合は，1941年にアメリカとイギリスによるサンフランシスコ会議で原型が作られ，ダンバートン・オークス会議で国際連合憲章が採択された。

② 経済社会理事会は，国際労働機関（ILO）や世界保健機関（WHO）などの専門機関と連携して国際的な取り組みを進めている。

③ 湾岸戦争では，安全保障理事会の決議のないまま，国連平和維持軍（PKF）の派遣が決定された。

④ 全加盟国で構成される総会では，各国一票の投票で表決が行われ，原則として全会一致の議決方式をとっている。

⑤ 冷戦終結後に国連改革が進められた結果，活動を停止していた信託統治理事会は事務局に統合された。

問14　次の第二次世界大戦後の国際関係に関する語句とその説明文の組合せのうち，正しいものを一つ選びなさい。

	語　句	説　明　文
①	トルーマン・ドクトリン	アメリカ国務長官が示した，ヨーロッパの戦後復興を支援する計画。
②	サンフランシスコ平和条約	日本が独立と主権を回復した条約で，ソ連は署名したが，中国は署名しなかった。
③	キューバ危機	キューバにソ連がミサイル基地を建設したことを理由に，アメリカが空爆を行った。
④	新思考外交	ソ連のフルシチョフが示した，資本主義陣営との平和共存は可能とした外交方針。
⑤	マルタ会談	アメリカのブッシュとソ連のゴルバチョフが冷戦終結を宣言した会談。

問15　次の経済思想に関する記述のうち，誤っているものを選びなさい。

① アダム・スミスは国家の市場への介入を最小にすべきと述べ，この考えは「夜警国家」や「小さな政府」などとよばれた。

② マルサスは，『経済発展の理論』で，企業家によるイノベーションが過度に進むと，資本主義経済の後退につながると述べた。

③ ケインズは，完全雇用を達成するためには，自由放任を改め，政府が財政・金融政策によって有効需要を増加させなければならないと説いた。

④ 19世紀にマルクスの唱えた社会主義の思想の影響を受け，1917年にレーニンを指導者とする革命勢力が，世界で最初の社会主義革命を成功させた。

⑤ フリードマンは，金融の規制緩和や公的企業の民営化などで市場機能の回復をはかるべきだと考えた。

問16　次の中央銀行による金融政策とその役割に関する記述のうち，正しいものを選びなさい。

① 好況時には，中央銀行は，国債や手形を買い上げることで，企業や家計など民間の経済部門（金融機関を除く）の通貨量を増やす買いオペレーションを行う。

② 好況時には，中央銀行は，公定歩合を引き下げることで，民間金融機関への資金の貸し出しを増やす。

③ 不況時には，中央銀行は，預金準備率を引き上げ，民間金融機関の資金量を減らすようにする。

④ 日本では，バブル崩壊後，「金利の自由化」に伴って，金融政策の主な手段が公定歩合操作から公開市場操作に移った。

⑤ 日本では，1990年代後半以降，預金準備率を０％に近づけるゼロ金利政策や，量的緩和政策を実施するようになった。

問17　次の中小企業に関する記述のうち，誤っているものを選びなさい。

① 現在，日本の企業のうち，事業所数の約99%を占めている中小企業には，商店街の個人商店も含まれ，地域社会の発展に寄与している。

② 中小企業と大企業の間には，賃金，労働条件，生産性などに大きな格差があり，この格差は日本経済の二重構造と呼ばれている。

③ 製造業では，従業員規模100人以下または資本金規模5000万円以下に該当する企業を中小企業とすることが，会社法に定められている。

④ 中小企業のなかには，大企業では採算が取れないニッチ（隙間）産業に進出し，全国各地の伝統的な地場産業や新しい産業の担い手となっている企業もある。

⑤ 大企業の下請け企業となっている中小企業は，景気変動による生産調整の手段として用いられ，「景気の安全弁」としての役割を果たしてきた。

問18　次の公害・環境問題に関する記述のうち，正しいものを選びなさい。

① 公害が深刻化するにつれて，公害批判の世論が高まっていく中，政府は1967年に環境基本法を制定し，環境基本計画を策定した。

② 四大公害訴訟では，原告側がいずれも勝訴し，判決文では，企業の責任を追及するとともに，政府の公害対策について厳しく批判した。

③ 公害に対する金銭的補償については，被害と企業活動の間に因果関係が認められ，企業に過失が認められた場合のみ，企業に賠償責任が生じることが法律で定められている。

④ 1993年に，環境アセスメント（環境影響評価）を義務付けることを定めた，公害対策基本法が制定された。

⑤ 1972年の国連環境開発会議（地球サミット）を機に，二酸化炭素排出量の削減を図るため，一部の国では環境税を導入したが，日本ではいまだ導入されていない。

問19　次の図は，ある企業のバランスシートの一部を示したものである。この企業の自己資本比率として適当なものを選びなさい。

資産	負債・純資産
資　産 工場の建物　8億円	負　債 銀行からの借入　6億円 純資産 資本金　2億円

①　10%　②　20%　③　25%　④　40%　⑤　50%

問20　次の図は，完全競争市場において，ある商品の市場における需要・供給と価格との関係を示したもので，価格がP，取引量がQにあるときに均衡状態にあるとする。この図に関する記述のうち，正しいものを選びなさい。

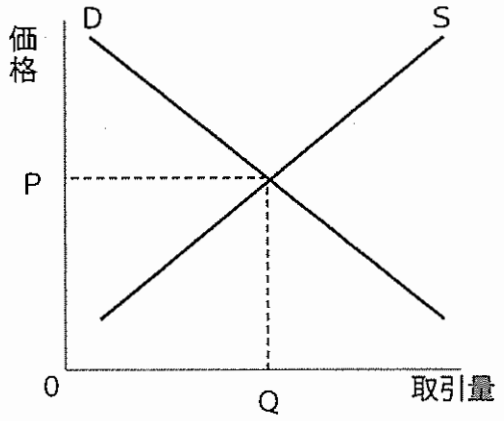

①　消費者の所得が上昇した場合は，供給曲線が右側にシフトし，市場価格は上昇する。
②　原材料価格が上昇した場合は，供給曲線が左側にシフトし，市場価格は上昇する。
③　新しい機械で生産性の向上が図られた場合は，供給曲線が右側にシフトし，市場価格は上昇する。
④　所得税が上がった場合，供給曲線が右側にシフトし，市場価格は上昇する。
⑤　消費税が引き上げられた場合，需要曲線が左側にシフトし，市場価格は上昇する。

問21　次の国際経済体制に関する記述のうち，誤っているものを選びなさい。

① 1930年代の世界的な不況の中で，世界各国は管理通貨制度から金本位制に移行し，金本位制は第二次世界大戦終了時まで続いた。

② GATTは，自由貿易，無差別最恵国待遇，多角主義の三原則の上に立ち，自由貿易を促進するため，1948年に設立された。

③ 第二次世界大戦後にブレトン・ウッズ体制のもと，ドルを基軸通貨とした固定為替相場制が成立したが，1973年には主要国は変動為替相場制に移行しはじめた。

④ 1985年に日米欧の先進諸国がドル高を是正することで合意した（プラザ合意）ことによりドルの円やマルクに対する為替レートは急速に下落しはじめた。

⑤ 1986年に開始されたウルグアイ・ラウンドでは，農産物の自由化や知的所有権の保護に加え，セーフガードなどをめぐり議論が行われた。

問22　次の古代ギリシアの思想に関する記述のうち，アリストテレスの思想として最も適当なものを選びなさい。

① 問答を繰り返すことによって相手に無知を自覚させ，思索を深めて真の知恵を発見させようとした。

② 個々の人間の判断があらゆるものの善悪と真理そのものを定める基準であって，万物をつらぬく普遍的な真理は存在しないとした。

③ 感情・欲望と結びついた日常生活においては，過度と不足の両極端を避けて中庸を選び，それを繰り返すことで倫理的徳を形成してゆかねばならないとした。

④ 統治者が備えるべき知恵とはイデアについての知であるため，哲学者が統治者となるか，統治者が真に哲学を行う必要があると考えた。

⑤ 人生の目的は情念や欲望によって動かされることのない，全く自由な境地（アパテイア）に到達することであり，それが最高善であると説いた。

問23　次の日本人の精神風土に関する記述のうち，適当でないものを選びなさい。

① 和辻哲郎は，『風土』の中で，モンスーン型の中でも，日本の風土では，静かなあきらめの感情が，ときに強烈な激情に転化する二重性格を示すと説いた。

② 日本の人々にとっての神は，一神教とは異なり，複雑多様な自然の威力そのものが神格化された存在で，さまざまな事物のうちに宿るものとされた。

③ 日本において，神に対する心のありようとして重んじられたのは，うそ偽りなく，何も包み隠さず，つくろい飾るところのない心であった。

④ 古代には，農耕生活が中心の共同生活の秩序を乱す行為とならび，自然災害や病気も罪・穢れとされ，罪・穢れを取り払うため，川や海の水で身をすすぐ「祓い」が行われた。

⑤ 日本は，外国からの宗教・文化を柔軟に受け入れながら独自の文化を育ててきたが，これは日本の神話にキリスト教などで説くような絶対的な神が登場しないことからもわかる。

問24　次の日本の近世の思想に関する記述のうち，最も適当なものを選びなさい。

① 林羅山は，あらゆる道徳の根源である「孝」の奥底には良知が備わっており，良知を行いにあらわすことが大切であると説いた。

② 中江藤樹は幕府に仕え，上下の身分秩序に従って行動することが，道徳の根本であるとし，陽明学の教えを武士の学問として普及させた。

③ 新井白石は幕府の政治顧問として正徳の治を推進していく中で，陽明学の理と日本神話の神との一致を解く垂加神道を唱えた。

④ 賀茂真淵は，『論語』『老子』の本来の意味・精神を後世の主観的な解釈を退けて実証的に解読することを目指す古義学を提唱した。

⑤ 本居宣長は，事物にふれたときの感情の動きを「もののあはれ」とよび，和歌の本質や『源氏物語』の主題はいずれもこの「もののあはれ」にあるとした。

問25　次の世界の三大宗教に関する記述のうち，最も適当なものを選びなさい。

① イエスは，信仰・希望・愛をキリスト教の三元徳とし，ギリシアの四元徳の上位に位置づけた。

② イエスの死後，パウロは教父として活動し，原罪を背負う人間は，神の恩寵によらなければ罪からの救いはないとし，恩寵のなか立ちをする教会の重要性を説いた。

③ ブッダは，涅槃に至る正しい道を八正道とし，八正道の実践のためには，徹底した苦行を求めた。

④ 東南アジアに伝えられた上座部仏教は，衆生の心は本来，ブッダとしての性質である悟りを備えているという六波羅蜜の考え方に立ち，出家指導者中心の部派を批判した。

⑤ ムスリムの規範（シャリーア）は，ムハンマドに下された神の啓示である聖典『クルアーン』と，ムハンマドのスンナ（言行）に示されている。

問26　次の近代のヨーロッパの思想に関する記述のうち，最も適当なものを選びなさい。

① パスカルは，人間は鳥獣でも天使でもなく，その両者の中間者であり，どちらの極にもかたむく，無力で不安定な存在であるとした。

② モンテーニュは，確実な原理を求めて，疑わしいすべてのことについて懐疑を徹底していく方法的懐疑の果てに，「われ思う，ゆえに我あり。」という真理に気づいた。

③ ベーコンは，自分の理性の立てた法則に自ら従うことを自律とよび，ここに人間の真の自由があると考えた。

④ カントは，人間の観察をゆがめる先入観をイドラとよび，これらのイドラの排除の重要性を説いたのち，知識獲得のための方法として演繹法を説いた。

⑤ ヘーゲルは，一般意志が表明されるためには，各人が自己の意志だけに従って意見を述べる必要があると考え，直接民主制を理想の国家像とした。

問27　次の生命と科学をめぐる課題に関する記述のうち，適当でないものを選びなさい。

① インドのガンディーは，インドの思想的伝統をふまえて，アヒンサーを徹底することを絶対的な真理の一つとして保持することを要求し，これが非暴力主義の背景となった。

② フーコーは，文化に優劣の価値序列をつけることは誤りであり，文化は多様性において共存しあうべきものであるという文化相対主義を説いた。

③ ウィトゲンシュタインは，写像理論を唱え，客観的な世界のあり方を写し取る像としてはたらくことが言語の本質であると主張した。

④ ベルクソンは，生命の進化は測りしれない「生命の躍動」によってもたらされ，人間の知性もそうした進化の過程で登場するとした。

⑤ フロイトは，エスと自我と超自我が人間の心を形成していると考え，この三つの要素によって心の全体を説明しようとした。

以下の問題は記述問題とする。 問28 ～ 問30 の解答は，全て「解答用紙（記述用）」に記入しなさい。

問28　ビルト・イン・スタビライザーが，景気の安定にどのように働くかについて，「累進課税制度」と「社会保障」の語句を使用し，100字以上150字以内で説明しなさい。

問29　裁判所の違憲法令審査権に関連する統治行為論について，判例を一つあげて，60字以上80字以内で説明しなさい。

問30　ベンサムの思想について，「最大多数の最大幸福」と「快楽計算」の語句を使用し，70字以上100字以内で説明しなさい。

解答用紙（記述用）

公　民	2の1

（令和６年度）

受験番号	氏　　名
第　　番	

問28

10　　20

問29

10　　20

解答用紙（記述用）

公　民	2の2

（令和６年度）

受験番号	氏　　名
第　　番	

問30

10　　20

令和6年度 福岡県公立学校教員採用候補者選考試験 解答及び配点

教科・科目　　公民

	解　答	配　点		解　答	配　点
問１	⑤	4	問２６	①	4
問２	①	4	問２７	②	4
問３	④	4	問２８	別紙	20
問４	③	3	問２９	別紙	15
問５	①	3	問３０	別紙	15
問６	①	3	問３１		
問７	④	3	問３２		
問８	④	4	問３３		
問９	③	4	問３４		
問１０	③	4	問３５		
問１１	③	4	問３６		
問１２	①	4	問３７		
問１３	②	3	問３８		
問１４	⑤	3	問３９		
問１５	②	4	問４０		
問１６	④	4	問４１		
問１７	③	4	問４２		
問１８	②	4	問４３		
問１９	③	4	問４４		
問２０	②	4	問４５		
問２１	①	4	問４６		
問２２	③	3	問４７		
問２３	④	3	問４８		
問２４	⑤	4	問４９		
問２５	⑤	4	問５０		

解答用紙（記述用）

公　民	3の1

（令和６年度）

受験番号	氏　　名
第　　番	解　答　例

問 28

（解答例）

10　20

る	景	気	が	悪	化	す	る	と	所	得	は	減	少	し	，	支	出	も	減
障	が	，	累	進	課	税	制	度	や	失	業	給	付	な	ど	の	社	会	保
こ	制	度	に	よ	っ	て	支	出	の	減	少	を	あ	る	程	度	抑	え	る
累	と	が	で	き	る	。	景	気	が	加	熱	し	て	い	る	と	き	に	は
負	進	課	税	制	度	に	よ	り	，	所	得	の	増	な	こ	と	上	は	税
出	担	税	増	し	，	社	会	保	障	関	係	費	も	い	と	が	と	で	支
る	も	減	少	え	，	景	気	の	加	熱	を	冷	ま	加	率	で	が	で	き
	。													減	る				

問 29

（解答例）

10　20

を	高	度	に	政	治	的	な	行	為	に	対	し	て	は	，	違	憲	審	査
で	行	う	べ	き	で	は	な	い	と	い	う	見	解	で	，	憲	川	事	件
出	は	，	日	米	安	全	保	障	条	約	は	違	憲	と	す	砂	判	決	が
	た	が	，	最	高	裁	で	は	判	断	を	回	避	し	た	る			

問 30

（解答例）

10　20

し	幸	福	と	は	，	快	楽	計	算	に	よ	る	快	楽	と	苦	痛	の	差
に	引	き	の	結	果	で	あ	り	，	で	き	る	だ	け	多	く	の	人	々
善	で	行	る	だ	け	多	く	の	幸	福	を	生	み	出	す	行	為	が	最
の	の	大	為	で	あ	る	と	し	，	こ	の	考	え	を	「	た	大	多	数
	最	き	幸	福	る	と	い	う	言	葉	で	あ	ら	わ	し		。		