令和７年度

福岡県公立学校教員

採用候補者選考試験問題

中　学　校　社　会

1　中学校社会の問題は下記のとおりです。
　　択一問題　問 1 ～問20
　　記述問題　問21 ～問24

2　択一問題は，全て「ＯＣＲ解答用紙」に記入してください。

3　記述問題は，全て「解答用紙（記述用）」に記入してください。

問１ ～ 問20 の解答は，全て [　　] の①～⑤から一つ選び，その番号を「ＯＣＲ解答用紙」にマークしなさい。

問１　次の文は，中学校学習指導要領解説社会編（平成29年文部科学省）「第２章　社会科の目標及び内容」「第１節　教科の目標」の一部を抜粋したものである。文中の（　ア　）～（　オ　）に当てはまる語句の正しい組合せを選びなさい。

社会的な見方・考え方については，第１章の２において示したとおり，社会科，地理歴史科，公民科の特質に応じた見方・考え方の総称であり，社会的事象等の意味や意義，特色や相互の関連を考察したり，社会に見られる課題を把握して，その解決に向けて構想したりする際の「視点や方法（考え方）」であると考えられる。そして，社会的な見方・考え方を働かせるとは，そうした「視点や方法（考え方）」を用いて課題を（　ア　）解決したりする学び方を表すとともに，これを用いることにより児童生徒の「社会的な見方・考え方」が（　イ　）ことを併せて表現している。

こうした「社会的な見方・考え方を働かせ」ることは，社会科，地理歴史科，公民科としての（　ウ　）学びを促し，深い学びを実現するための思考力，判断力の育成はもとより，（　エ　）知識の習得に不可欠であること，（　オ　）学習に取り組む態度にも作用することなどを踏まえると，資質・能力全体に関わるものであると考えられるため，柱書に位置付けられている。

また，中学校社会科における「社会的な見方・考え方」は，地理的分野における「社会的事象の地理的な見方・考え方」，歴史的分野における「社会的事象の歴史的な見方・考え方」，その上に立つ公民的分野における「現代社会の見方・考え方」を総称しての呼称であり，第１章の２において示したとおりである。

	ア	イ	ウ	エ	オ
①	調査したり	身に付いていく	本質的な	生きて働く	自主的に
②	追究したり	身に付いていく	効果的な	正確な	主体的に
③	追究したり	鍛えられていく	本質的な	生きて働く	主体的に
④	調査したり	鍛えられていく	効果的な	正確な	自主的に
⑤	調査したり	身に付いていく	本質的な	正確な	主体的に

問２　次の文は，中学校学習指導要領解説社会編（平成29年文部科学省）「第２章　社会科の目標及び内容」「第２節　各分野の目標及び内容」「２　歴史的分野の目標，内容及び内容の取扱い」「⑴　目標」の一部を抜粋したものである。文中の（　ア　）～（　エ　）に当てはまる語句の正しい組合せを選びなさい。ただし，同じ記号には同じ語句が入る。

> 思考・判断したことを説明したり，それらを基に（　ア　）したりする力については，歴史的分野における表現力に関わるものである。歴史的分野における「表現力」とは，主旨が明確になるように内容構成を考え，歴史に関わる事象についての意味や意義について，自分の考えを（　イ　）に説明する力，他者の主張を踏まえたり取り入れたりして，歴史に関わる事象についての自分の考えを（　ウ　）しながら（　ア　）する力のことであると考えられる。こうした表現力を養うためには，学習内容や活動に応じた（　エ　）の場面を設定し，生徒の表現を促すようにすることなどが重要である。

	ア	イ	ウ	エ
①	論述	論理的	強化	振り返り
②	議論	論理的	再構成	振り返り
③	議論	的確	再構成	話し合い
④	論述	的確	再構成	話し合い
⑤	議論	的確	強化	振り返り

問３　次の文は，中学校学習指導要領解説社会編（平成29年文部科学省）「第３章　指導計画の作成と内容の取扱い」「１　指導計画の作成上の配慮事項」の一部を抜粋したものである。文中の（　ア　）～（　オ　）に当てはまる語句や数の正しい組合せを選びなさい。ただし，同じ記号には同じ語句や数が入る。

> ⑶　各分野の履修については，第１，第２学年を通じて地理的分野及び歴史的分野を（　ア　）学習させることを原則とし，第３学年において歴史的分野及び公民的分野を学習させること。各分野に配当する授業時数は，地理的分野（　イ　）単位時間，歴史的分野（　ウ　）単位時間，公民的分野100単位時間とすること。これらの点に留意し，各学校で創意工夫して適切な指導計画を作成すること。

ここで示されている配慮事項の前段において，「第１，第２学年を通じて地理的分野と歴史的分野を（　ア　）学習させることを原則とし，第３学年においては歴史的分野及び公民的分野を学習させること」とあるのは，「地理的分野及び歴史的分野の（　エ　）の上に公民的分野の学習を展開するこの教科の基本的な構造」を踏まえてこの教科の履修について述べたものであり，第１学年と第２学年では地理的分野と歴史的分野を（　ア　）学習させ，更に第３学年では最初に歴史的分野について学習することとしている。したがって，地理的分野は第１，第２学年あわせて（　イ　）単位時間履修させ，歴史的分野については第１，第２学年あわせて（　オ　）単位時間，第３学年の最初に40単位時間履修させ，その上で公民的分野を100単位時間履修させることになる。

	ア	イ	ウ	エ	オ
①	継続して	135	115	成果	95
②	並行して	115	135	成果	75
③	並行して	135	115	基礎	75
④	継続して	135	115	基礎	75
⑤	並行して	115	135	基礎	95

※　次の略地図を見て，問４に答えなさい。

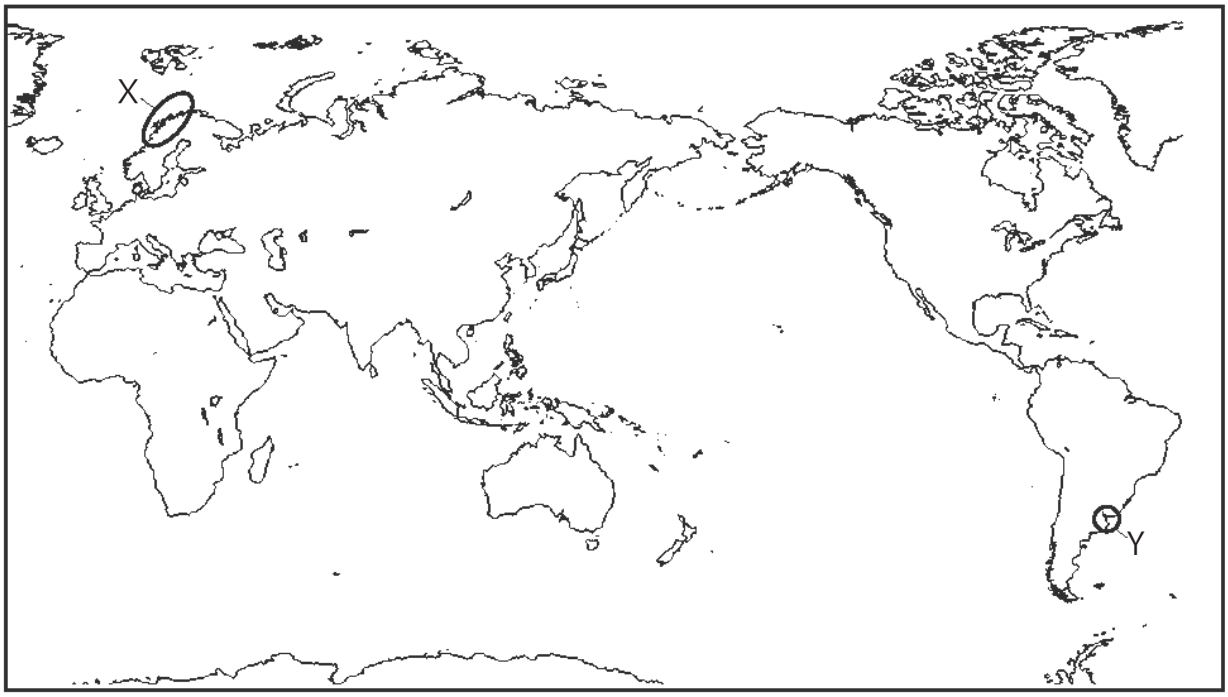

問４　略地図中ＸとＹの海岸地形の正しい組合せを選びなさい。

	X	Y
①	エスチュアリ	リアス海岸
②	リアス海岸	エスチュアリ
③	フィヨルド	リアス海岸
④	エスチュアリ	フィヨルド
⑤	フィヨルド	エスチュアリ

問５　次の《資料Ⅰ》,《資料Ⅱ》は，「大豆」「小麦」のいずれかの輸出上位国を示している。また，資料中のＡ～Ｅは，フランス，ロシア，アメリカ，ブラジル，アルゼンチンのいずれかの国が当てはまる。Ａ～Ｅに当てはまる国の正しい組合せを選びなさい。ただし，同じ記号には同じ国名が入る。

《資料Ⅰ》

2020年	万トン
A	3, 727
B	2, 613
カナダ	2, 611
C	1, 979

《資料Ⅱ》

2020年	万トン
D	8, 297
B	6, 457
パラグアイ	662
E	636

（「2023データブック　オブ・ザ・ワールド」から作成）

	A	B	C	D	E
①	アメリカ	フランス	ロシア	アルゼンチン	ブラジル
②	アメリカ	ロシア	フランス	アルゼンチン	ブラジル
③	ロシア	アメリカ	フランス	ブラジル	アルゼンチン
④	ロシア	フランス	アメリカ	ブラジル	アルゼンチン
⑤	フランス	アメリカ	ロシア	ブラジル	アルゼンチン

※　次の略地図を見て，問６～問７に答えなさい。

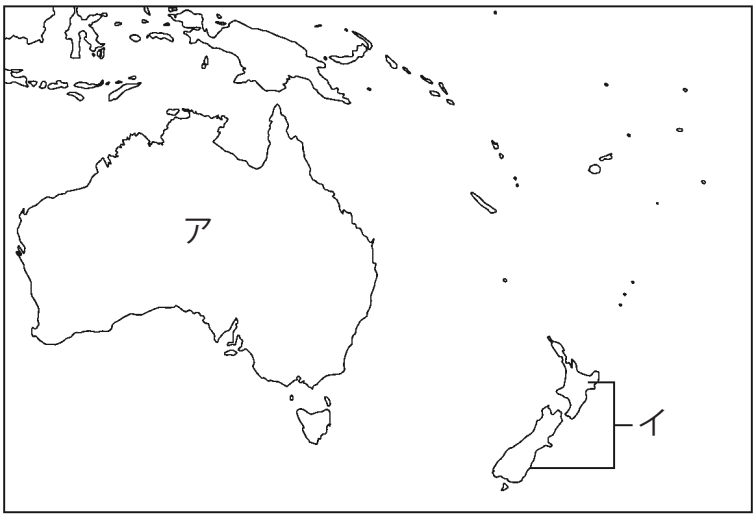

問６　次の《資料》は，略地図中のアの国の輸出相手国の変化を示している。《資料》中のＡ～Ｃは，日本，中国，韓国のいずれかの国が当てはまる。Ａ，Ｃに当てはまる国の正しい組合せを選びなさい。ただし，同じ記号には同じ国名が入る。

《資料》

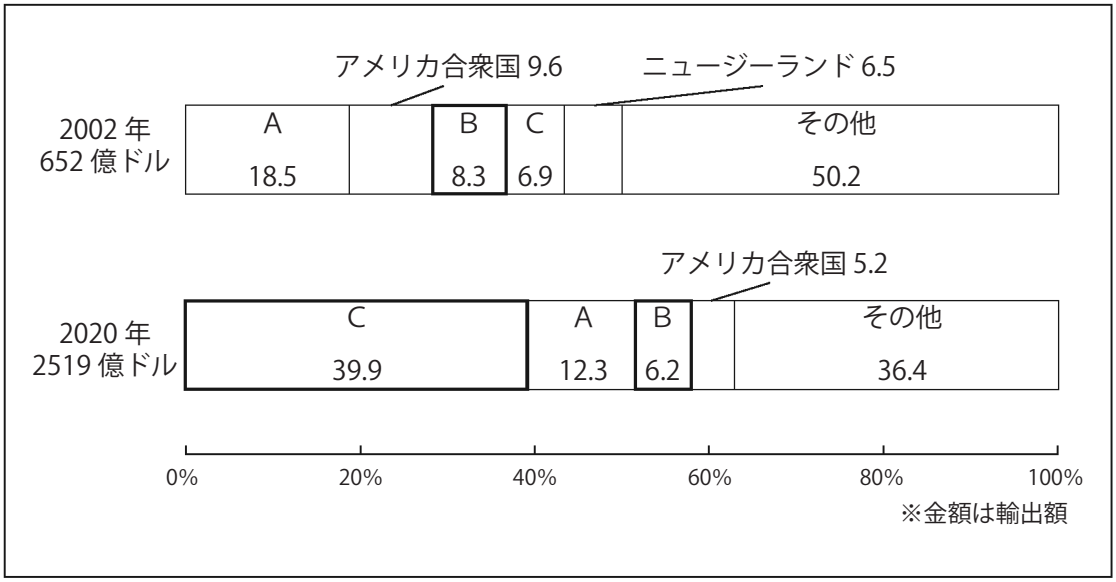

（「世界国勢図会2004 ／ 05」「世界国勢図会2022 ／ 23」から作成）

	A	C
①	中国	韓国
②	日本	中国
③	中国	日本
④	韓国	中国
⑤	日本	韓国

問７　次の文は，略地図イの国について述べたものである。文中の下線部ａ～ｅのうち，正しいものを〇，誤っているものを×としたとき，正しい組合せを選びなさい。

この国は，a せばまるプレート境界である変動帯に位置し，日本と同様に火山や地震が多く見られる。南島には，標高3000mを超える山々がいくつも連なっており，山々にある氷河がつくり出した雄大な自然景観は，観光資源にもなっている。

b 貿易風の影響を受ける西岸海洋性気候で，一年中適度な雨が降るため，牧草がよく育ち c 羊や牛の牧畜が盛んである。

主に d イギリスからの移民によって国づくりが進められたが，英語と共に先住民 e マオリの言語が公用語とされ，多文化社会の一員としての先住民の文化や社会的地位を守る取組が進められている。

	a	b	c	d	e
①	×	〇	×	〇	×
②	×	〇	〇	〇	〇
③	〇	×	×	×	×
④	〇	×	〇	〇	〇
⑤	×	×	〇	×	×

※　次の略地図を見て，問８～問９に答えなさい。

問８　次の《資料》のａ～ｄは，略地図中ア～エの道県の2019年における「食料品」「パルプ・紙・紙加工品」「石油製品・石炭製品」「輸送用機械器具」の製造品出荷額等を示している。ａ～ｄに当てはまる道県の正しい組合せを選びなさい。

《資料》　（単位　億円）

	食料品	パルプ・紙・紙加工品	石油製品・石炭製品	輸送用機械器具
a	22, 288	3, 880	7, 872	3, 845
b	2, 251	960	9, 535	11, 825
c	17, 437	4, 569	7, 721	266, 844
d	16, 296	1, 429	*28, 480	1, 333

*4人以上事業所のみ

（「データでみる県勢2023」から作成）

	a	b	c	d
①	ア	エ	ウ	イ
②	イ	エ	ア	ウ
③	ア	イ	エ	ウ
④	エ	ア	ウ	イ
⑤	エ	イ	ウ	ア

問９　次の《資料》のⅠ～Ⅲは，略地図中Ｘ～Ｚのいずれかの都市の雨温図（1991年から2020年の平均値）を示している。Ⅰ～Ⅲに当てはまる都市の正しい組合せを選びなさい。

《資料》

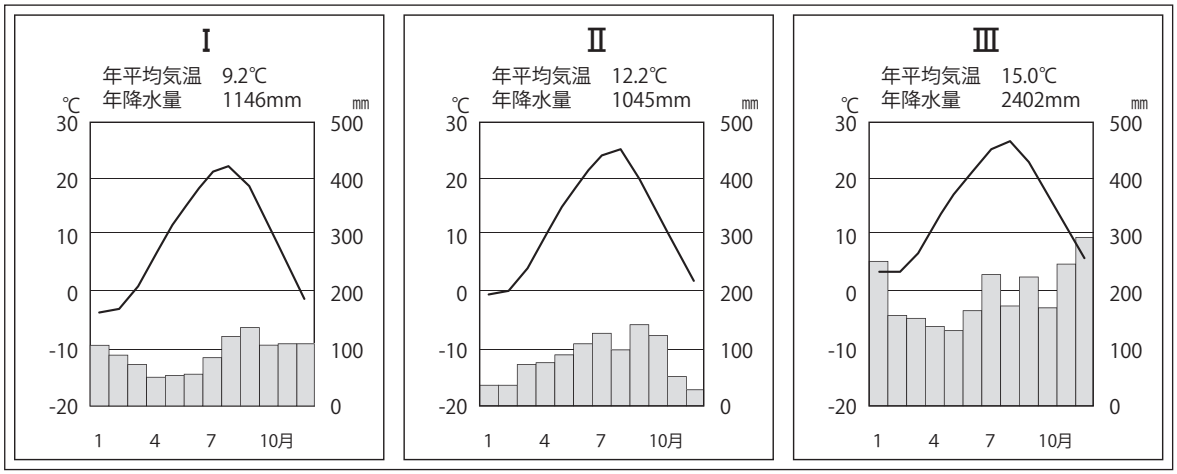

（「理科年表2024」から作成）

	Ⅰ	Ⅱ	Ⅲ
①	Z	Y	X
②	X	Z	Y
③	X	Y	Z
④	Y	X	Z
⑤	Y	Z	X

問10　次のア～エの各文は，人類の進化について述べたものである。文中の下線部ａ～ｄのうち，正しいものを○，誤っているものを×としたとき，正しい組合せを選びなさい。

ア　アフリカ大陸で出現した$_{a}$アウストラロピテクスなどは猿人に分類される。猿人の化石はアフリカにしか発見されておらず，人類はアフリカで誕生したと考えられている。

イ　原人は，脳の大きさが猿人の約２倍となり，$_{b}$火を使用するようになったと考えられている。

ウ　約35万年前にネアンデルタール人に代表される旧人が生まれ，$_{c}$磨製石器の製作技術が進化し，ことばを使う能力も発達したと考えられている。

エ　アフリカ大陸で生まれた新人が日本列島にも渡ってきたとされている。最後の$_{d}$氷期で，海面が現在よりも100メートルほど低下していて大陸とほぼ陸続きになっていたことが渡来のきっかけと考えられている。

	a	b	c	d
①	○	×	○	×
②	×	○	×	×
③	×	×	○	○
④	○	○	×	○
⑤	○	○	○	×

問11　次の文は，古代中国について述べたものである。（　ア　）～（　オ　）に当てはまる最も適切な語句の組合せを選びなさい。ただし，同じ記号には同じ語句が入る。

紀元前４世紀，「戦国の七雄」の１国であった（　ア　）は新しい制度や技術を取り入れて強大化し，紀元前221年には初めて中国を統一した。しかし，相次ぐ軍事行動や土木工事の負担に人々は苦しみ，各地で反乱がおき，（　ア　）は統一後わずか15年で滅亡した。その後，農民出身の（　イ　）が楚の名門出身の項羽を倒し，紀元前202年に中国を統一して（　ウ　）王朝をたてた。

３世紀前半に（　ウ　）王朝が滅亡すると，華北の（　エ　），四川の蜀，長江中・下流域の呉が並び立つ三国時代に突入した。３国中もっとも有力な（　エ　）は蜀を滅ぼしたが，（　エ　）の将軍であった（　オ　）が帝位を奪い晋をたて，呉も破って中国を統一した。

	ア	イ	ウ	エ	オ
①	趙	劉邦	唐	宋	司馬遷
②	秦	劉邦	漢	魏	司馬炎
③	秦	劉備	唐	魏	司馬炎
④	趙	劉備	漢	宋	司馬炎
⑤	趙	劉邦	漢	魏	司馬遷

問12　次の《資料》は，15世紀から17世紀における国内の主な出来事と,世界の主な出来事を左から順に示している。《資料》の（　ア　）～（　オ　）には,《語群》ａ～ｅのいずれかが入る。（　ア　）～（　オ　）に当てはまる最も適切な組合せを選びなさい。

《資料》

時代	（室町）	（安土桃山）	（江戸）
国内の主な出来事	応仁の乱 加賀の一向一揆	種子島に鉄砲が伝来する キリスト教の伝来 （　ア　） （　イ　） 関ヶ原の戦い	朱印船貿易 島原・天草一揆
世界の主な出来事	スペイン王国が成立	バスコ＝ダ＝ガマがインド航路を発見 （　ウ　） マゼラン隊が世界一周を達成 （　エ　） インドにムガル帝国が成立	（　オ　） オランダがスペインから独立を宣言 イギリスがスペインの無敵艦隊を破る イギリスが東インド会社を設立

《語群》

a	コロンブスが西インド諸島に到達
b	織田信長が室町幕府を滅ぼす
c	ルターが宗教改革をとなえる
d	イギリスでエリザベス１世が即位
e	豊臣秀吉が関白となる

	ア	イ	ウ	エ	オ
①	b	e	a	c	d
②	b	e	c	d	a
③	e	b	c	a	d
④	e	b	d	a	c
⑤	b	e	a	d	c

問13　次のａ～ｄの各文は，第一次世界大戦後の世界各国の様子を述べたものである。ａ～ｄの出来事が起きた年代を，古い順に正しく並びかえたものを選びなさい。

a	アメリカのよびかけでワシントン会議が開かれ，アメリカ・イギリス・日本・フランス・イタリアの主力艦の保有比率を定めた海軍軍縮条約が結ばれた。
b	第二次山東出兵の際に，日本軍は国民革命軍とのあいだに武力衝突をおこし，一時，済南城を占領した。
c	連合国とドイツの間で，ヴェルサイユ条約が結ばれ，ドイツはすべての植民地を失い，巨額の賠償金を課せられた。
d	ムッソリーニが政権を握っていたイタリアは，植民地を得ようとエチオピアに侵攻した。

①	c → d → a → b
②	c → b → a → d
③	c → a → b → d
④	a → d → c → b
⑤	a → c → b → d

問14　次のａ～ｅは，日本にある歴史的な建造物である。建てられた年代の古い順にａ～ｅを並べたとき，古い方から２番目と４番目に当たる正しい組合せを選びなさい。

ａ　聖徳太子（厩戸皇子）が斑鳩に建てた寺

ｂ　聖武天皇の遺品が納められていた建物

ｃ　僧の重源が宋の様式を取り入れ再建した門

ｄ　足利義政が東山に建てた１層が書院造，２層が禅宗様の仏堂

ｅ　東北地方を支配した，奥州藤原氏の力を象徴する建物

	２番目	４番目
①	b	e
②	a	d
③	a	c
④	b	c
⑤	a	e

問15　次のア～オの各文は，江戸時代における幕府の政治について述べたものである。正しいものを〇，誤っているものを×としたとき，正しい組合せを選びなさい。

ア	５代将軍徳川綱吉は，儒学を盛んにして，孔子をまつる聖堂を江戸の湯島に建てた。また，生類憐みの令を出して，生類すべての殺生を禁じ，捨て子の保護なども命じた。
イ	朱子学者の新井白石は，金の含有率を下げた元禄小判を改め，慶長小判を鋳造させて，物価の騰貴を抑えようとした。また，倹約令を出すとともに出版統制令を出して政治批判や風俗をきびしく取り締まった。
ウ	８代将軍徳川吉宗は，武士に倹約と武芸をすすめ，才能ある役人は上級の役人にとり立てた。また，目安箱を設けて民衆の意見を政治の参考にし，武家諸法度という法令集をつくり，裁判の基準とした。
エ	田沼意次は，商工業者の同業者組合である株仲間を認め，営業を独占させる代わりに，一定の税を幕府に納めさせた。また，長崎の貿易も盛んにし，幕府の財政改善を図った。
オ	松平定信は，政治をひきしめるとともに，正業をもたない者に資金を与えて，農村に帰ることを奨励した旧里帰農令を出した。また，旗本や御家人の生活難を救うため，棄捐令を出して札差に貸金を放棄させた。

	ア	イ	ウ	エ	オ
①	〇	〇	×	×	〇
②	〇	×	×	〇	〇
③	×	×	〇	〇	×
④	〇	〇	〇	〇	×
⑤	×	〇	〇	×	〇

問16　次のア～オの各文は，日本の司法制度について述べたものである。正しいものを○，誤っているものを×としたとき，正しい組合せを選びなさい。

ア	裁判所には，最高裁判所と下級裁判所がある。下級裁判所として，高等裁判所，地方裁判所，家庭裁判所，簡易裁判所の４種類の裁判所が法律で設けられている。
イ	裁判所は，一切の法律，命令，規則，処分などが，最高法規である憲法に違反していないかどうかを判断する権限である，違憲審査権を有している。これまで，最高裁判所において，違憲審査権に基づいた違憲判決を出したことはない。
ウ	民事裁判，刑事裁判ともに，三回裁判を受けることができる三審制を採用している。第一審の判決に不服であれば上級の裁判所に控訴し，控訴判決についても不服であれば，さらに上級の裁判所に上告することができる。
エ	司法制度改革の一環として，2009年に裁判員制度が導入された。裁判員は，20歳以上の国民からくじで選ばれていたが，成人年齢の引き下げに伴い，18歳以上となっている。
オ	他人の犯罪を告発する見返りに，告発者の処分を軽くする司法取引の制度は，現在の日本でも取り入れられている。対象となる犯罪は，贈収賄や詐欺，脱税，独占禁止法違反などである。

	ア	イ	ウ	エ	オ
①	○	×	×	×	○
②	×	○	×	○	○
③	×	×	○	○	×
④	○	○	○	×	×
⑤	○	×	○	○	○

問17　次の文は，社会保障制度の成り立ちについて述べたものである。（　ア　）～（　オ　）に当てはまる最も適切な語句の組合せを選びなさい。

17世紀のイギリスで，世界初の公的扶助として制定された（　ア　）に始まり，19世紀には，ドイツのビスマルクによる社会保障制度が確立し，1919年には，（　イ　）によって，生存権保障の規定が設けられた。

さらにアメリカでは，世界恐慌によるニューディール政策の一環として，公的扶助と社会保険を統合した（　ウ　）が1935年に制定された。そして，イギリスでは，1942年，社会保険，公的扶助，公的医療などによる，貧困撲滅計画であるベバリッジ報告が出され，「（　エ　）」といわれる社会保障の基礎を作った。

こうした動きによって，多くの国が憲法で生存権を規定し，基本的人権としての社会保障の理念が確立されていった。日本でも，日本国憲法第25条第２項で，「国は，すべての生活部面について，社会福祉，社会保障及び（　オ　）の向上及び増進に努めなければならない。」と国家の義務が規定された。

	ア	イ	ウ	エ	オ
①	エリザベス救貧法	ワイマール憲法	社会保障法	ゆりかごから墓場まで	公衆衛生
②	疾病保険法	プロイセン憲法	国民保険法	健康で文化的な最低限度の生活	環境衛生
③	疾病保険法	ワイマール憲法	国民保険法	ゆりかごから墓場まで	環境衛生
④	疾病保険法	プロイセン憲法	社会保障法	ゆりかごから墓場まで	公衆衛生
⑤	エリザベス救貧法	ワイマール憲法	国民保険法	健康で文化的な最低限度の生活	公衆衛生

問18　次の文は，中小企業について述べたものである。（　ア　）～（　エ　）に当てはまる最も適切な語句の組合せを選びなさい。

近年の規制緩和，産業構造の変化，需要の多様化，経済のグローバル化によって，コンパクトで小回りの利く中小企業に国内外でのビジネスチャンスが生まれている。大企業との下請け取引構造が弱まるなかで，より自立的な経営をおこなう中小企業が増えている。（　ア　）市場におけるイノベーションは日本の中小企業の特徴であり，国際展開をはかる企業も増加している。独創的な商品の開発によって新たな市場に挑戦する（　イ　）のなかには，ＩＣＴ（情報通信技術）やビッグデータを活用して急成長をとげたところがある。その一方で，起業してから短期間に休業や廃業に追い込まれる企業も少なくない。

最近では，環境問題，高齢者支援，地域活性化などに取り組む（　ウ　）企業や，コミュニティ・ビジネスも急増している。また，インターネットなどを通して不特定多数の人に対して，新規事業への資金提供を呼びかけ，その趣旨に賛同した人から資金を調達する（　エ　）も増加している。

	ア	イ	ウ	エ
①	オフショア	ベンチャー企業	社会的	ファンドレイジング
②	オフショア	ファミリー企業	多国籍	クラウド・ファンディング
③	ニッチ	ベンチャー企業	社会的	クラウド・ファンディング
④	ニッチ	ファミリー企業	社会的	ファンドレイジング
⑤	オフショア	ベンチャー企業	多国籍	ファンドレイジング

問19　次のア～オの各文は，国際連合について述べたものである。正しいものを○，誤っているものを×としたとき，正しい組合せを選びなさい。

ア	国際連合には，全ての加盟国で構成され，出資金に応じた票数が与えられる総会が置かれている。総会は，国連憲章に定められた全ての問題について議論を行い，加盟国に対して勧告することができる。
イ	安全保障理事会は，アメリカ・イギリス・中国・フランス・ロシアの５か国の常任理事国と，任期が２年で毎年半数ずつが改選される10か国の非常任理事国から構成されている。重要な議題は，五大国一致の原則がとられ，１か国でも反対すると決定することができない。
ウ	平和維持活動（PKO）は，原則として紛争が起きている国の同意に基づいて行われているものである。日本では，国際平和協力法（PKO法）に基づいて，カンボジアや東ティモールなどに対して自衛隊の派遣を行ってきた。
エ	国家間の争いを法的に解決する仕組みとして，国際司法裁判所が設置されている。本部はスイスのジュネーブにあり，加盟国から依頼された，条約の解釈や国際法上の問題に関する紛争についての裁判を行う。
オ	信託統治理事会は，経済や社会，文化，教育，保健，人権など，非政治的な分野の国際問題について，必要となる調査や研究を行い，報告や勧告を行っている機関である。

	ア	イ	ウ	エ	オ
①	○	×	×	○	○
②	○	○	×	○	×
③	×	×	○	○	×
④	×	○	○	×	×
⑤	×	○	×	×	○

問20　次の会話文は，「私たちと地方自治」というテーマで，あおいさんと，まことさんが学習後に話している場面である。（　ア　）～（　エ　）に当てはまる最も適切な語句の組合せを選びなさい。

あおいさん：まことさん，今日は地方自治について勉強したね。今日の学習を一緒に振り返ってみようよ。

まことさん：地方自治の本旨の１つの住民自治とは，「地方公共団体の活動が，住民の意思と参加に基づいて行われること」だね。

あおいさん：住民の意思が反映される仕組みとして，首長・議員の解職や議会の解散，条例の制定や改廃などを求める直接請求権があるよ。首長・議員の解職や議会の解散の請求には，有権者の３分の１以上の署名が，また，条例の制定または改廃の請求は，有権者の50分の１以上の署名が必要だね。

まことさん：そうだね，首長・議員の解職や議会の解散を求める場合，請求先は（　ア　）だと学習したね。請求の内容によって，署名の数や請求先が異なっているよね。

あおいさん：首長や議員の解職請求のことを「リコール」，条例の制定または改廃の請求については，「（　イ　）」とよぶこともあるよ。

まことさん：また，（　ウ　）で生まれた制度である，オンブズマン制度も広がっているね。オンブズマンは住民からの苦情を受けつけ，調査結果を公表したり，必要に応じて地方公共団体に改善を求めたりしているよ。
※オンブズマンはオンブズ・パーソンとよばれることもある。

あおいさん：イギリスの政治家であった（　エ　）は，地方自治は「民主主義の学校」だと述べているよね。これは民主主義が地方自治の伝統の上に築かれ，住民が地域の自治に参画することにより，主権者としての自覚を高めてきたことを意味していると言われているよ。

	ア	イ	ウ	エ
①	選挙管理委員会	イニシアティブ	スウェーデン	ブライス
②	選挙管理委員会	レファレンダム	フィンランド	トックビル
③	監査委員	イニシアティブ	フィンランド	ブライス
④	監査委員	レファレンダム	スウェーデン	トックビル
⑤	監査委員	イニシアティブ	スウェーデン	トックビル

※以下の問題は記述問題とする。
次の 問21 ～ 問24 の解答は，全て「解答用紙（記述用）」に記入しなさい。

問21　次の文は，中学校学習指導要領解説社会編（平成29年文部科学省）「第２章　社会科の目標及び内容」「第２節　各分野の目標及び内容」「１　地理的分野の目標，内容及び内容の取扱い」「⑵　内容」「Ｃ　日本の様々な地域」の一部を抜粋したものである。文中の（　ａ　）～（　ｄ　）に当てはまる語句を《語群》ア～カから選び，それぞれ記号で答えなさい。ただし，同じ記号には同じ語句が入る。

　このうち，地域の共通点や差異については，ある指標を基に他と異なる共通した性質をもつ（　ａ　）としての空間的なまとまりを見いだすことを意味している。
　ここでは，作成された地域区分と他の項目から作成された地域区分を比較し，共通点や差異，分布の（　ｂ　）に着目して，多面的・多角的に考察し，その結果を表現できるようにすることが大切であり，この分布の（　ｂ　）については，地理的な事象の分布の粗密を調べることで，中心と周辺からなる（　ｃ　）としての圏構造を見いだすことが考えられる。
　地域の特色は，他地域と比較したり関連付けたりすることによってより一層明らかになってくる。しかし，一方で比較の仕方や関連付け方によっては，ある面だけを強調したりして誤解を助長する恐れもある。したがって，地域を比較し関連付ける際には，地域の（　ｄ　）に対応させたり，より視野を広げてみたり，過去と現在といった時間的経過などを考慮したりして，適切かつ多面的・多角的に取り扱うよう工夫する必要がある。

《語群》

ア　等質地域　　イ　機能地域　　ウ　変容　　エ　規模　　オ　傾向性　　カ　規則性

問22　次の《資料Ⅰ》は東京都中央卸売市場におけるなすの取扱実績（令和４年），《資料Ⅱ》は高知市の雨温図（1991年から2020年の平均値）を示している。⑴，⑵の各問いに答えなさい。

《資料Ⅰ》

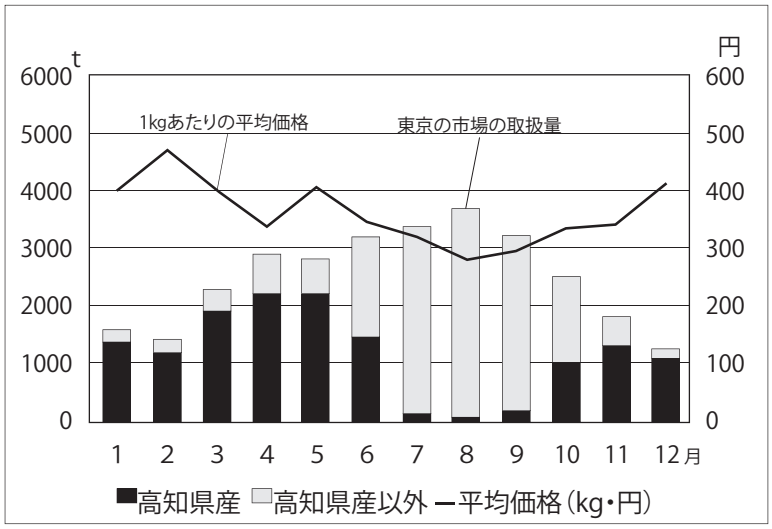

（東京都中央卸売市場ホームページから作成）

《資料Ⅱ》

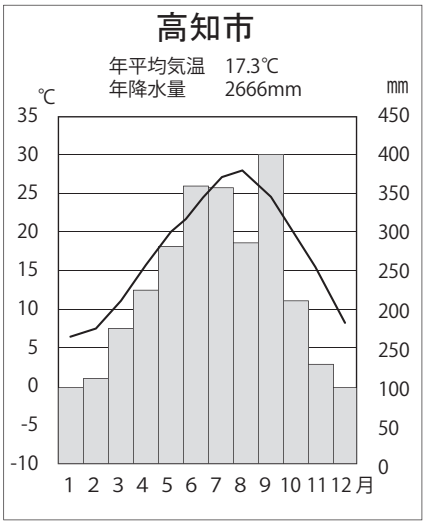

（「理科年表2024」から作成）

⑴　《資料Ⅰ》からわかる高知県産なすの出荷の工夫とその利点を答えなさい。

⑵　⑴のような工夫が可能となる理由を，《資料Ⅱ》からわかる気候の特徴となす栽培の特徴を関連づけて答えなさい。

問23　次の《資料Ⅰ》～《資料Ⅲ》をみて，⑴～⑶の各問いに答えなさい。

《資料Ⅰ》　人権宣言（一部要約）

第１条　人は生まれながらにして，自由・平等である。 第３条　すべての主権の淵源は，本来的に国民にある。 第４条　自由とは，他人を害しないすべてのことをなしうることにある。 第５条　何人も，法律が命じていないことを行うように強制されない。

《資料Ⅱ》

《資料Ⅲ》

⑴　フランス革命が起こる以前，ルイ14世のころに絶頂を迎えていた，国王による専制政治のことを何というか，答えなさい。

⑵　《資料Ⅰ》に影響を与えたルソーは，その著書で，「契約によって国家を形成する人民こそが主権者であり，間接的な議会制ではなく，個人が社会の統治に直接民主政の形で参加するべき」と説いた。この著書を答えなさい。

⑶　《資料Ⅱ》はフランス革命前の様子を，《資料Ⅲ》は平民の要求を表したものである。平民がどのような世の中を求めていたのかを，３人の関係性の違いに着目しながら答えなさい。なお，その際，「３人の身分」と「石が何を表しているか」を明らかにすること。

問24　次の《資料Ⅰ》,《資料Ⅱ》をみて，⑴，⑵の各問いに答えなさい。

《資料Ⅰ》需要と供給の関係を表したグラフ

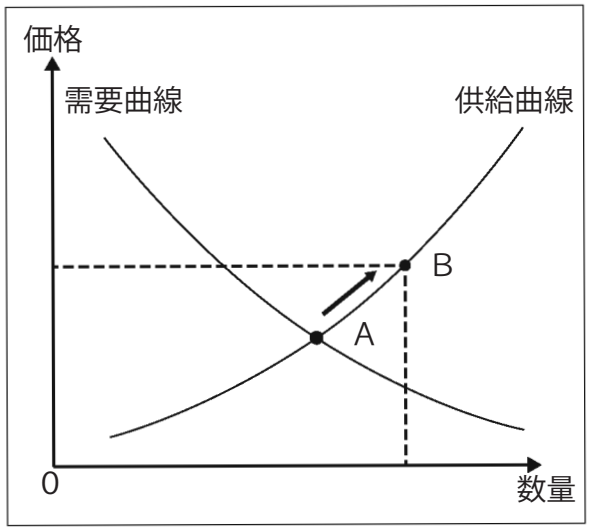

《資料Ⅱ》

第１条　この法律は，不当な取引制限及び不公正な取引方法を禁止し，事業支配力の過度の集中を防止して，結合，協定等の方法による生産，販売，価格，技術等の不当な拘束を排除する。

第２条第６項　「不当な取引制限」とは，他の事業者と共同して対価を決定し，維持し，若しくは引き上げることにより，公共の利益に反して，一定の取引分野における競争を実質的に制限することをいう。

（一部要約）

⑴　《資料Ⅰ》はある財の需要と供給の関係を表したものである。《資料Ⅰ》中の点Ａは，需要と供給が等しくなる均衡点を表している。ところがある要因によって，均衡点がＢに移動した。このような変化が生じる理由として，当てはまるものを一つ選び，記号で答えなさい。

ア　消費者の所得が増加し，財の購買意欲が向上した。
イ　設備投資などで，生産性が向上した。
ウ　企業等が他の財への生産に切り替えた。
エ　財の生産や収穫が減少した。

⑵　《資料Ⅱ》は，市場メカニズムの機能が発揮されず市場の失敗が生じ，消費者に不利益をもたらすことを防ぐために制定された法律の一部である。

この法律で禁止されている，①，②の状態をそれぞれ答えなさい。

①　製品・サービスの供給が１社に占有され，その企業が市場で価格支配力をもつ場合。
②　供給が複数企業にしぼられ，価格が競争ではなく協調によって決定される場合。

解答用紙（記述用）

社　会	1の1

（令和７年度）

受験番号	氏　　名
第　　番	

問21

a		b		c		d	

問22

(1)	
(2)	

問23

(1)	
(2)	
(3)	

問24

(1)				
(2)	①		②	

令和７年度福岡県公立学校教員採用候補者選考試験　解答及び配点

教科・科目：中学校社会科

	解　答	配　点		解　答	配　点
問 1	③	5	問 32		
問 2	②	5	問 33		
問 3	⑤	5	問 34		
問 4	⑤	5	問 35		
問 5	③	5	問 36		
問 6	②	5	問 37		
問 7	④	5	問 38		
問 8	①	5	問 39		
問 9	③	5	問 40		
問 10	④	5	問 41		
問 11	②	5	問 42		
問 12	①	5	問 43		
問 13	③	5	問 44		
問 14	④	5	問 45		
問 15	②	5	問 46		
問 16	⑤	5	問 47		
問 17	①	5	問 48		
問 18	③	5	問 49		
問 19	④	5	問 50		
問 20	①	5	問 51		
問 21	記述	１２	問 52		
問 22	記述	１２	問 53		
問 23	記述	１４	問 54		
問 24	記述	１２	問 55		
問 25			問 56		
問 26			問 57		
問 27			問 58		
問 28			問 59		
問 29			問 60		
問 30			問 62		
問 31			問 63		

解答用紙（記述用）

社　会	1の1

（令和７年度）

受験番号	氏　名
第　　番	

問 21

a	ア	b	オ	c	イ	d	エ

12

問 22

（1）	流通量が少ない時期に出荷することで，高い価格で取引できるという利点がある。	6
（2）	温暖な気温を生かし，なすの生育を早める促成栽培を行っているから。	6

問 23

（1）	絶対王政	4
（2）	社会契約論	4
（3）	僧，貴族に特権が与えられ，重税を表す石に平民が苦しめられている状況から，僧，貴族，平民が平等に税を負担する世の中を求めている。	6

問 24

（1）	ア				4
（2）	①	独占	②	寡占	8

令和７年度

福岡県公立学校教員

採用候補者選考試験問題

高等学校　地理歴史

1　高等学校地理歴史の共通問題は下記のとおりです。受験者全員が解答してください。

　　択一問題　　問１から問10まで

2　高等学校地理歴史の専門問題は下記のとおりです。高等学校地理歴史（歴史）志願者は歴史の問題を，高等学校地理歴史（地理）志願者は地理の問題を選択してください。

（１）歴史

　　択一問題　　問11から問23まで

　　記述問題　　問24から問25まで

（２）地理

　　択一問題　　問26から問38まで

　　記述問題　　問39から問40まで

3　択一問題は，全て「ＯＣＲ解答用紙」に解答してください。

4　記述問題は，全て「解答用紙（記述用）」に解答してください。

※ 問１ ～ 問10 の解答は，全て選択肢から一つ選び，「ＯＣＲ解答用紙」にマークしなさい。

地理歴史（共通）問題

問１　次の文は，高等学校学習指導要領（平成30年３月告示）「地理歴史」の科目「地理総合」の「内容の取扱い」の一部である。文中のア～ウの空欄に当てはまる語句の正しい組合せを選びなさい。

> 学習過程では取り扱う内容の（　ア　）を踏まえることとし，政治的，経済的，（　イ　）的，地学的な事象なども必要に応じて扱うことができるが，それらは空間的な（　ウ　）や諸地域の特色を理解するのに必要な程度とすること。

	ア	イ	ウ
①	地理的な課題	文　化	相互依存性
②	歴史的背景	文　化	傾向性
③	歴史的背景	生　物	傾向性
④	歴史的背景	生　物	相互依存性
⑤	地理的な課題	生　物	相互依存性

問２　次の文は，高等学校学習指導要領（平成30年３月告示）「地理歴史」の科目「地理探究」の「内容の取扱い」の一部である。文中のア～ウの空欄に当てはまる語句の正しい組合せを選びなさい。

> 地図の読図や作図，衛星画像や空中写真，（　ア　）の読み取りなど地理的技能を身に付けることができるよう系統性に留意して計画的に指導すること。その際，教科用図書「地図」を十分に活用するとともに，地図や（　イ　）などの地理情報の収集・分析には，「地理総合」における学習の成果を生かし，地理情報システムや（　ウ　）などの活用を工夫すること。

	ア	イ	ウ
①	ハザードマップ	統　計	デジタル地図
②	ハザードマップ	地域構成	デジタル地図
③	景観写真	地域構成	デジタル地図
④	景観写真	地域構成	情報通信ネットワーク
⑤	景観写真	統　計	情報通信ネットワーク

問３　次の文は，高等学校学習指導要領（平成30年３月告示）「地理歴史」の科目「日本史探究」の「目標」の一部である。文中のア～ウの空欄に当てはまる語句の正しい組合せを選びなさい。

> 我が国の歴史の展開に関わる事象の意味や意義，伝統と文化の（　ア　）などを，時期や年代，推移，（　イ　），相互の関連や現在とのつながりなどに着目して，概念などを活用して多面的・多角的に考察したり，歴史に見られる課題を把握し解決を視野に入れて構想したりする力や，考察，構想したことを（　ウ　）したり，それらを基に議論したりする力を養う。

	ア	イ	ウ
①	成立過程	比　較	効果的に説明
②	特　色	比　較	効果的に説明
③	特　色	地域性	効果的に説明
④	特　色	地域性	根拠を示して表現
⑤	成立過程	地域性	根拠を示して表現

問４　次の文は，高等学校学習指導要領（平成30年３月告示）「地理歴史」の科目「世界史探究」の「内容の取扱い」の一部である。文中のア～ウの空欄に当てはまる語句の正しい組合せを選びなさい。ただし，同じ記号には同じ語句が入る。

> 歴史に関わる諸事象については，（　ア　）と関連付けて扱うとともに，特定の（　イ　）やその推移及び特定の（　ウ　）やその広がりの中で生起することを踏まえ，（　イ　）的・（　ウ　）的な比較や関連付けなどにより捉えられるよう指導を工夫すること。

	ア	イ	ウ
①	地理的条件	社　会	地　域
②	現代的課題	社　会	地　域
③	現代的課題	時　間	空　間
④	地理的条件	時　間	空　間
⑤	地理的条件	社　会	空　間

問５　図版ア～エについて述べた各文の正誤を判断し，その組合せが正しいものを選びなさい。

ア

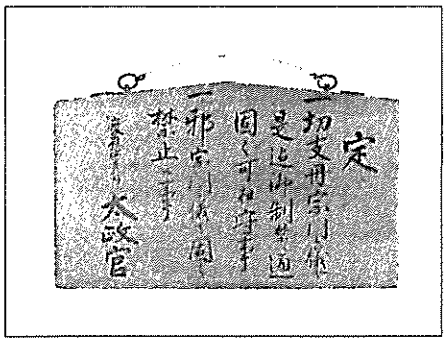

イ



ウ

エ

ア　五箇条の誓文で欧米からの理念や知識の導入などが示されたことから，民衆向けに出された五榜の掲示ではキリスト教信仰を解禁し，国内のキリスト教徒への弾圧も停止されることとなった。

イ　シベリア出兵をみこした米価高騰に対する富山県の女性たちの抗議運動を契機に，全国で米の安売りを要求する運動がおこった。混乱を鎮圧できなかった寺内正毅内閣は総辞職し，かわった原敬内閣がモラトリアムを制定して動乱を鎮めた。

ウ　リットン調査団の報告書にもとづき，日本の満洲国承認撤回を求める勧告案が国際連盟総会でほぼ全会一致で採択され，松岡洋右ら日本全権団は総会会場から退場し，その後，日本は国際連盟脱退を通告した。

エ　朝鮮戦争の勃発にともない，出撃した在日アメリカ軍にかわる治安維持のため，GHQは日本政府に警察予備隊の創設を指示し，公職追放解除となった旧軍人らも警察予備隊に採用された。

	ア	イ	ウ	エ
①	正	正	誤	誤
②	正	誤	正	誤
③	正	誤	誤	正
④	誤	正	正	誤
⑤	誤	誤	正	正

問６　次の各文は，古代～近世における日本の文化について述べた文である。次のア～エについて，年代が古い順に正しく並べたものを選びなさい。

ア　僧侶・商人らによって南宋や元など中国の文化がもたらされた時代で，公家が文化の担い手となって伝統文化を受け継ぐ一方で，武士や庶民に支持された新たな文化が展開した。

イ　中央集権的な国家体制が整った時代で，都を中心に高度な貴族文化が花開いた。遣唐使などを通じた諸外国との交流によってもたらされた，外来文化の影響を強く受けた国際色豊かな文化である。

ウ　東アジアの秩序と幕政が安定して経済発展が著しかった時代で，富裕層以外にも町人や有力百姓など多彩な文化の担い手が生まれた。日本独自の文化の成熟や平和と安定の中で学問が重視されたことが特色である。

エ　幕府が京都に開かれ，東アジアとの活発な交流が行われた時代で，武家文化と公家文化，大陸文化と伝統文化の融合が進んだ。能・茶の湯など伝統文化の基盤がつくられたことも特色である。

①	ア → イ → ウ → エ
②	ア → ウ → イ → エ
③	イ → ア → エ → ウ
④	イ → エ → ア → ウ
⑤	イ → ア → ウ → エ

問７　産業革命とその後のイギリスについて述べた次の各文のうち，正しいものを選びなさい。

① イギリスの産業革命は，綿製品の国産化をめざした技術革新から始まり，ジョン＝ケイによる飛び杼の発明や，クロンプトンによる力織機の発明などがなされた。

② ワットらにより蒸気機関が改良されると，スティーヴンソンは蒸気機関車を実用化し，また，ホイットニーによって蒸気船が発明された。

③ 産業革命の進展により，綿工業の中心都市マンチェスターなど，新興の工業都市の人口は増加した。

④ 19世紀のイギリスでは，穀物法や航海法が制定されるなど，工場や企業を経営する産業資本家の利益を優先する自由貿易政策が採用された。

⑤ 第１回選挙法改正で参政権を得ることができなかった労働者たちは，権利の章典を掲げて，チャーティスト運動を展開した。

問８　19世紀の清朝について述べた次の各文のうち，正しいものを選びなさい。

① イギリスがインド産のアヘンを中国に密輸した結果，大量の銀が中国国外に流出するようになると，清朝はアヘン取り締まりのために林則徐を広州に派遣した。

② アヘン戦争後の南京条約では，清はイギリスに対して香港島を割譲し，上海など５港を開港したほか，領事裁判権や協定関税，最恵国待遇なども認めさせられた。

③ キリスト教の影響を受けた宗教結社である拝上帝会を組織した洪秀全は，清の打倒を目指して挙兵し，北京を占領して天京と改め，太平天国の首都とした。

④ 太平天国の鎮圧の主力となった曾国藩や李鴻章らが中心となって洋務運動が実施され，西洋の軍事技術の導入や科挙の廃止などが行われた。

⑤ 義和団戦争後の中国では，康有為らが光緒帝を動かして，明治維新をモデルとする政治改革を推進したが，西太后ら保守派のクーデタによって失敗した。

問９　地図とGIS（地理情報システム）について述べた次の各文のうち，正しいものを選びなさい。

① 手作業で作成されていた地形図は近年デジタル化されており，電子国土基本図をもとに作成されるようになったため，地形図はWeb上のみの閲覧となった。

② 地形図の縮尺は「１万分の１」，「２万５千分の１」，「５万分の１」，「20万分の１」の４種類があり，そのうち小縮尺は「１万分の１」地形図である。

③ 主題図は特定の主題に注目して表現された地図であり，肉牛の飼育頭数などの絶対値を表現する場合には階級区分図として示すことが多い。

④ リモートセンシングで使われる位置情報の取得には，現在位置を求めるGISが使われ，カーナビゲーションシステムなどに搭載されている。

⑤ インターネットを通じて提供されるWeb GISは，地図の閲覧を中心とした操作を簡単に行うことができ，知りたい情報を見やすく表示することができる。

問10　世界の気候と人々の暮らしについて述べた次の各文のうち，正しいものを選びなさい。

① 乾燥帯は人の定住には適さないエクメーネであるが，外来河川やオアシスでは生活に利用する水が得られるため，灌漑農業などを行い人々が暮らしている。

② 寒帯では１月の平均気温が－20℃以下となる地域に永久凍土が分布しており，建物を高床式にすることで永久凍土に熱を伝えないように工夫されている。

③ 温帯では大陸西岸と大陸東岸を比べると大陸西岸の気温の年較差が小さい。また，大陸西岸では一年を通して小麦の栽培が盛んである。

④ 熱帯は一年を通して高温であるため気温の年較差は小さく，日較差は大きい。また，熱帯収束帯や季節風による降水や午後のスコールも多い。

⑤ 亜寒帯（冷帯）は北半球にのみ分布する気候で，土壌は肥沃度が高い褐色森林土が分布するため，冬の寒さは厳しいがロシアなどでは小麦の生産が盛んである。

※ 問11 ～ 問23 の解答は，全て選択肢から一つ選び，「ＯＣＲ解答用紙」にマークしなさい。
※ 問24 ～ 問25 の解答は，全て「解答用紙（記述用）」に記入しなさい。

地理歴史（歴史）問題

問11　原始・古代の社会・文化について述べた次の各文の正誤を判断し，その組合せが正しいものを選びなさい。

ア　縄文時代，繁殖を祈るためと考えられる妊娠した女性の土偶や男性器をかたどる石棒などがつくられた。また，成人したことを示す儀式として禊や祓を行ったり，死者の手足を折り曲げて屈葬したりした。

イ　５世紀以降，ヤマト政権は渡来人を韓鍛冶部，陶作部，錦織部，鞍作部などとよばれる技術者集団に組織した。また，漢字の使用も始まり，五経博士とよばれた渡来人がヤマト政権の記録や出納・外交文書などの作成に当たった。

ウ　奈良時代，結婚はまず男性が女性の家に通う妻問婚に始まり，夫婦としていずれかの父母のもとで生活し，やがて自らの家をもった。夫婦は結婚しても別姓のままで，また各々自分の財産をもっていた。

エ　平安時代，貴族男性の正装は束帯やそれを簡略にした水干であり，束帯は身分により色が違った。女性の正装は唐衣や裳をつけた女房装束（十二単）で色の異なる袿を何枚も重ねて美しさを強調した。衣冠は庶民や武士などに広く用いられた。

	ア	イ	ウ	エ
①	正	正	誤	誤
②	誤	誤	正	誤
③	正	誤	正	誤
④	誤	正	正	正
⑤	正	正	誤	正

問12　平安時代の政治について述べた次の各文のうち，正しいものを選びなさい。

① 後三条天皇は，荘園の増加により公領が圧迫されているとして，902年に延喜の荘園整理令を発した。中央に記録荘園券契所を設け，基準に合わない荘園を停止した。

② 後三条天皇の皇子である白河天皇は，1086年に幼少の堀河天皇に譲位すると，自ら上皇（院）として院庁を開き，天皇を後見しながら政治の実権を握る院政の道を開いた。

③ 1156年，鳥羽法皇の死後，後白河天皇は藤原忠通と結び，平清盛や源義朝ら武士を集めた。一方，崇徳上皇は藤原頼長と結び，源為義・平忠正らを動員し，天皇方を破った。

④ 平治の乱で勝利した平清盛は，1167年に摂政となり，その後，娘の徳子を安徳天皇の中宮に入れ，その子の高倉天皇を即位させ外戚として威勢を振るった。

問13　中世における外交・交易について述べた次の各文のうち，**誤っているもの**を選びなさい。

① 日宋貿易では，日本からは金・水銀・硫黄・刀剣・漆器・扇などが輸出され，大陸からは宋銭をはじめ陶磁器・香料・薬品・書籍などが輸入された。

② 足利尊氏・直義兄弟は夢窓疎石の勧めで，後醍醐天皇の冥福を祈るため天龍寺を建立しようとし，その造営費調達のために天龍寺船を元に派遣した。

③ 1401年，足利義満は明に使者を派遣して国交を開いた。国交を開くに当たり，義満は明の皇帝から「日本国王源道義」宛の返書と明の暦を与えられた。

④ 室町幕府の衰退とともに，日明貿易の実権は堺商人と結ぶ大内氏と博多商人と結ぶ細川氏の手に移った。両氏は1523年に寧波で衝突し，勝利した大内氏が貿易を独占した。

問14　近世の文化について述べた次の各文のうち，正しいものを選びなさい。

① 寛永期の前後には，日光東照宮をはじめ霊廟建築が流行し，神社建築には禅の精神にもとづく簡素さと，伝統文化の幽玄・侘を精神的な基調とする数寄屋造が広く用いられた。

② 木下順庵や門人の新井白石らは朱子学を学んだが，知行合一の立場で現実を批判してその矛盾を改めようとするなど革新性をもっていたために，幕府から警戒された。

③ 歌舞伎では，江戸に勇壮な演技（荒事）で好評を得た初代市川団十郎，上方に恋愛劇（和事）を得意とする坂田藤十郎，女形の代表とされる芳沢あやめ等の名優が出た。

④ 幕府は洒落本や滑稽本は風紀を乱すとして厳しく取り締まり，洒落本作者の山東京伝や滑稽本作者の式亭三馬らが処罰された。

問15　次の各文は，明治政府の政策やそれに対する意見に関する史料の一部である。次のア～オについて，年代が古い順に正しく並べたものを選びなさい。

ア　「一　広ク会議ヲ興シ万機公論ニ決スベシ」

イ　「臣等伏シテ方今政権ノ帰スル所ヲ察スルニ，上帝室ニ在ラズ，下人民ニ在ラズ，而シテ独リ有司ニ帰ス。」

ウ　「第四条　皇居又ハ行在所ヲ距ル三里以内ノ地ニ住居又ハ寄宿スル者ニシテ，内乱ヲ陰謀シ……警視総監又ハ地方長官ハ内務大臣ノ認可ヲ経，……三年以内同一ノ距離内ニ出入寄宿又ハ住居ヲ禁ズルコトヲ得。」

エ　「凡ソ天地ノ間一事一物トシテ税アラザルハナシ。以テ国用ニ充ツ。然ラバ則チ，人タルモノ固ヨリ心力ヲ尽シ国ニ報ゼザルベカラズ。西人之ヲ称シテ血税ト云フ。其生血ヲ以テ国ニ報ズルノ謂ナリ。」

オ　「第二十九条　日本臣民ハ法律ノ範囲内ニ於テ言論著作印行集会及結社ノ自由ヲ有ス。」

①	ア → ウ → エ → オ → イ
②	ア → エ → オ → イ → ウ
③	ア → エ → イ → ウ → オ
④	エ → ア → オ → イ → ウ
⑤	エ → ア → イ → ウ → オ

問16　大正～昭和時代の政治について述べた次の各文のうち，正しいものを選びなさい。

① 「平民宰相」として国民から歓迎された原敬首相だったが，政党政治の腐敗に憤激した一青年により東京駅で暗殺された。その後，高橋是清が後継内閣を組織したが短命に終わり，かわって海軍大将加藤友三郎が内閣を組織し，以後３代の非政党内閣が続いた。

② 1925年，立憲政友会が浜口雄幸を総裁に迎え，政友本党を吸収したため，護憲三派の提携は解消された。その結果，加藤高明内閣は憲政会を単独与党とする内閣となった。

③ 1928年に満洲の奉天郊外でおこったノモンハン事件の処理をめぐって，田中義一首相は当初，関係者の厳重処分を決意し天皇に上奏したが，陸軍などから反対されたため方針を転換したことから，天皇に叱責された。田中首相は即座に辞職を決意し，内閣は総辞職した。

④ 1936年にはワシントン・ロンドン両海軍軍備制限条約が失効するため，陸海軍による帝国国防方針の改定にもとづいて，近衛文麿内閣は「国策の基準」で，軍部における内閣の主導権を確立する一方で，国外へ漸進的に進出する方針を決定した。

問17　戦後の政治・経済について述べた次の各文のうち，**誤っているもの**を選びなさい。

① 戦後，極度の物不足に加えて，通貨が増発されたことにより，猛烈なインフレーションが発生したため，幣原喜重郎内閣は金融緊急措置令を発し，預金を封鎖してそれまで使用されていた旧円の流通を禁止した。

② 池田勇人内閣は「所得倍増」をスローガンに，高度経済成長をさらに促進する経済政策を展開した。また，池田内閣は「政経分離」の方針のもと，国交のない中華人民共和国との貿易拡大を目指して，LT貿易とよばれる準政府間貿易の取決めを結んだ。

③ 1960年代後半から1970年代にかけて，地方選挙では革新勢力が支援する候補者の勝利が相次ぎ，東京都知事に美濃部亮吉が当選するなど，大都市圏では革新自治体が成立した。

④ 田中角栄が内閣を組織し，「日本列島改造論」を掲げて日中間の自由貿易の拡大を推進した。その後，1978年に福田赳夫首相が訪中して日中共同声明を発表し，中華人民共和国を「中国で唯一の合法政府」と認めた。

問18　古代ギリシア・ヘレニズム文化について述べた次の各文のうち，正しいものを選びなさい。

① 叙事詩の分野では，ホメロスがトロイア戦争を題材に『イリアス』・『オデュッセイア』を著し，ヘシオドスが『労働と日々』を著した。

② 民主政の祭典では演劇のコンテストが開催されるようになり，悲劇詩人のアイスキュロスやフェイディアス，喜劇作家のアリストファネスらの作品が上演された。

③ 「万物の尺度は人間」として相対主義を唱えたプロタゴラスに対して，「無知の知」を唱えたゼノンは，真理の絶対性と知徳の合一を主張した。

④ ヘロドトスはペルシア戦争について物語的な歴史記述を行い，一方で，プルタルコスはペロポネソス戦争について史料批判にもとづいた歴史記述を行った。

⑤ アレクサンドリアに建設されたムセイオンでは自然科学が研究され，エラトステネスは地球の周囲を計測し，アリスタルコスは地球中心説（天動説）を唱えた。

問19　次の地図は，８世紀の東アジア・南アジア・東南アジアを表している。この地図中の[A]～[E]の国家・王朝について述べた次の各文のうち，正しいものを選びなさい。

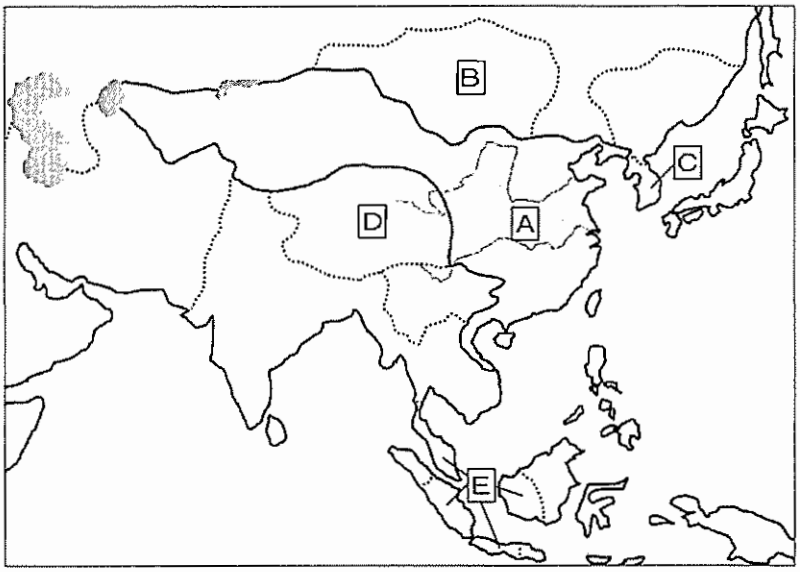

① [A]は，南北朝時代を統一した中国の王朝で，支配下に入れた周辺異民族に自治を認める羈縻政策を実施し，各地に設置した都護府に監督させた。

② [B]は，マニ教を受容したトルコ系遊牧国家であり，[A]で発生した黄巣の乱の際には援軍を派遣し，その見返りとして絹馬貿易で莫大な利益を得た。

③ [C]は，[A]と結んで百済・高句麗を滅ぼして朝鮮半島を統一した国家で，両班とよばれる血縁的な身分制度を成立させた。

④ [D]は，ソンツェン＝ガンポがラサを都として建設した国家で，[A]の文化の影響を受けて，チベット仏教やチベット文字をつくり出した。

⑤ [E]は，スマトラ島のパレンバンを中心に成立した仏教国で，７世紀には[A]の僧である義浄が来朝し，当時の状況を『南海寄帰内法伝』に書き記した。

問20　オスマン帝国の発展と衰退について述べた次の各文のうち，正しいものを選びなさい。

① メフメト２世は，東ローマ帝国の後継国家である神聖ローマ帝国を滅ぼし，コンスタンティノープルに遷都して名称をイスタンブルと改めた。

② スレイマン１世は，カルロス１世が統治するスペインとの間で行われたレパントの海戦に勝利し，地中海の制海権を得た。

③ オスマン帝国支配下において，キリスト教徒やユダヤ教徒はイスラーム法に従って生活することを強制され，信仰の自由は認められなかった。

④ オスマン帝国は，17世紀末にハンガリーなどをオーストリアに割譲し，18世紀後半にはクリミア半島をロシアに奪われるなど，領土を縮小させた。

⑤ 19世紀後半，アブデュルハミト２世の治世にオスマン帝国憲法（ミドハト憲法）が発布されたが，クリミア戦争が勃発すると憲法は停止された。

問21　アメリカ合衆国の独立と発展について述べた次のア～オについて，年代が古い順に正しく並べたものを選びなさい。

ア　大陸横断鉄道が開通して西漸運動がさらに進展した結果，フロンティアの消滅が宣言された。

イ　モンロー教書（宣言）により，南北アメリカ大陸とヨーロッパの相互不干渉が主張された。

ウ　印紙法が制定されると，植民地住民は「代表なくして課税なし」と唱えて，反対運動を展開した。

エ　公有地において５年間定住した開拓者に対して，一定の土地を無償で与えることを定めたホームステッド法（自営農地法）が制定された。

オ　トマス＝ジェファソン大統領の時代に，フランスのナポレオンからルイジアナを買収し，アメリカ合衆国の領土は大きく拡大した。

①	ウ → エ → オ → イ → ア
②	ウ → オ → イ → エ → ア
③	エ → ウ → オ → ア → イ
④	ウ → エ → イ → オ → ア
⑤	エ → ウ → オ → イ → ア

問22　帝国主義時代における列強の世界分割について述べた次の各文のうち，**誤っているもの**を選びなさい。

① ベルギーによるコンゴ領有をめぐって国際対立が生じると，ドイツのビスマルクはベルリン会議を開き，アフリカ植民地化における「先占権」を確認した。

② ロシアが東清鉄道の敷設権を得ると，ウラジヴォストクにいたるシベリア鉄道と旅順・大連が結びつけられた。

③ アメリカ＝スペイン戦争に勝利したアメリカ合衆国は，プラット条項でパナマを保護国化し，さらにフィリピンやグアムを獲得した。

④ 英仏協商が締結されて，イギリスがエジプト，フランスがモロッコを勢力圏とすると，これに反発したドイツが二度にわたりモロッコ事件を引きおこした。

⑤ イギリス領となったオーストラリアでは，19世紀半ばに金鉱が発見されると移民が増加し，先住民のアボリジニーはさらにその土地を追われることとなった。

問23　第二次世界大戦後のインド・東南アジアについて述べた次の各文の正誤を判断し，その組合せが正しいものを選びなさい。

ア　1945年，スカルノを指導者としてインドネシアの独立が宣言されると，フランスは武力介入を行い，ディエンビエンフーの戦いがおこったが，失敗に終わった。

イ　1954年，中国の周恩来首相とインドのネルー首相が平和五原則を発表すると，その翌年にアジア＝アフリカ会議の開催が実現し，平和十原則が採択された。

ウ　1965年，中国系住民が中心となってマレーシアから独立を果たしたシンガポールでは，リー＝クアンユー首相が開発独裁体制をしいた。

エ　カシミール地方の帰属をめぐるインドとパキスタンの戦争（第３次インド＝パキスタン戦争）の結果，1971年に東パキスタンがバングラデシュとして独立した。

オ　ベトナム戦争は1973年に和平協定が実現し，ジョンソン大統領が米軍を撤退させると，1975年に北ベトナム軍がサイゴンを占領し，南北ベトナムの統一が達成された。

	ア	イ	ウ	エ	オ
①	正	誤	正	誤	誤
②	正	誤	誤	誤	正
③	誤	誤	誤	正	誤
④	誤	正	正	正	誤
⑤	誤	正	誤	誤	正

問24　立憲国家の成立に関して，1880年代から1890年代にかけて地方自治制度はどのようにして確立したか。中心となった内務大臣の氏名と助言を得た外国人顧問の出身国及び人物名をあげて，70字以内（句読点を含む）で説明しなさい。

問25　第一次世界大戦中，列強は戦争を有利に進めるために秘密条約にもとづく戦時外交を行った。パレスチナをめぐる民族問題の原因となったイギリスの戦時外交政策について，国家建設を約束した２つの民族名を明らかにしながら，「シオニズム運動」という語句を使って，70字以内（句読点を含む）で説明しなさい。

※ 問26 ～ 問38 の解答は，全て選択肢から一つ選び，「ＯＣＲ解答用紙」にマークしなさい。

※ 問39 ～ 問40 の解答は，全て「解答用紙（記述用）」に記入しなさい。

地理歴史（地理）問題

問26　大地形についてまとめた次の表の正誤を判断し，その組合せが正しいものを選びなさい。

	名称	特徴	主な地下資源	代表例
ア	安定陸塊	先カンブリア時代の造山運動によって形成。 平坦な地形が多い。	鉄鉱石	バルト楯状地 シベリア卓状地
イ	古期造山帯	古生代の造山運動によって形成。 なだらかな山地や丘陵などが広がる。	石炭	アパラチア山脈 ウラル山脈
ウ	新期造山帯	中生代・新生代以降の造山運動によって形成。 高く険しい山がみられる。	原油	ロッキー山脈 スカンディナヴィア山脈

	ア	イ	ウ
①	正	正	正
②	正	正	誤
③	正	誤	正
④	誤	正	誤
⑤	誤	誤	正

問27　世界のさまざまな地形について述べた次の各文のうち，正しいものの組合せを選びなさい。

ア　世界の砂漠の大部分を占める砂砂漠には，砂丘が発達するほか，普段はかれ川で交通路として利用されるワジがみられる。

イ　沈水海岸でみられるリアス海岸では，平地が少なく交通も不便なため大きな都市は発達しづらいが，波が穏やかな内湾は天然の良港であり，養殖業も盛んである。

ウ　山岳氷河の侵食力は大きく，谷底や谷壁を深くえぐり取り，Ｖ字谷をつくる。氷河によって侵食された土砂は下流に運ばれ，堆積してビュートを形成する。

エ　火山の噴火の際の爆発・陥没で生じた円形の大きな凹地をカルデラといい，マグマによる水蒸気噴火によって生じた円形の凹地をマールとよぶ。

オ　厚い石灰岩層からなる地域では，地表にドリーネとよばれるくぼみが多数でき，ドリーネが結合・拡大すると，平らな谷底をもつウバーレが形成される。

①	ア・イ・エ
②	ア・ウ・エ
③	イ・ウ・オ
④	イ・エ・オ
⑤	ウ・エ・オ

問28　次の雨温図ア・イに当てはまる気候帯について述べた文の組合せとして正しいものを選びなさい。

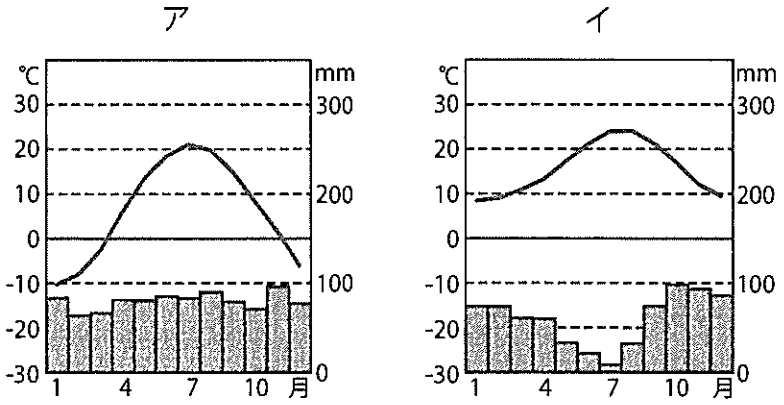

（理科年表2021ほか）

a　月桂樹・コルクガシなどの樹木がみられ，ブドウ・オレンジなどの果樹栽培が盛んである。

b　エゾマツなどの常緑針葉樹が分布し，小麦栽培や酪農，混合農業が営まれている。

c　常緑広葉樹と落葉広葉樹の混合林が分布し，豊富な降水量を利用した稲作などが行われる。

d　酸性度が高く，養分にとぼしいポドゾルとよばれる灰白色の土壌が広がる。

e　石灰岩が風化してできたテラロッサとよばれる赤色の土壌が分布する。

f　玄武岩が風化してできたテラローシャとよばれる赤紫色の土壌が分布する。

	ア	イ
①	a・d	b・e
②	a・f	c・d
③	b・d	a・e
④	b・e	c・f
⑤	c・f	a・d

問29　地球環境問題について述べた次の各文のうち，**誤っているもの**を選びなさい。

① 地球温暖化への対策として採択された京都議定書では，先進国・発展途上国全体で温室効果ガスの削減目標が５％とされた。日本は排出量を増やしたが，森林吸収などのしくみを使って目標を達成した。

② 大気汚染の原因物質として，工場や自動車から排出される硫黄酸化物や窒素酸化物などがあげられ，それらが化学変化を起こして降水や雲，霧などに取り込まれ，酸性雨や酸性霧を発生させている。

③ サハラ砂漠南縁に沿って東西に延びるサヘルなど砂漠周辺地域で進む砂漠化の要因として，干ばつや乾燥化などの気候的要因，過放牧・過伐採・過耕作などの人為的要因があげられる。

④ 森林破壊は，生物多様性を低下させるだけでなく，地球環境の保全機能を失わせるため，持続可能な森林の利用を目指して伝統的な焼畑農業を参考に，農業と林業を複合的に経営するアグロフォレストリーなどが行われている。

⑤ 産業活動が活発な地域の沿海は水質汚濁が激しく，ごみとなって海洋に流れ込んだプラスチックは波に破砕されてマイクロプラスチックとよばれる微小粒子となり，生態系への影響が懸念されている。

問30　世界の農業について述べた次の各文のうち，**誤っているもの**を選びなさい。

① アメリカ合衆国の五大湖沿岸地域には，Df気候の冷涼な気候が分布しており，農牧業は酪農地帯（デイリーベルト）が広がり，園芸農業が点在する。

② 南半球に位置するニュージーランド南島にはサザンアルプス山脈があり，偏西風の風下側である南島の東部では牧羊が広く行われている。

③ インドのデカン高原には，石灰岩が風化してできたレグール土が分布し，イギリスの植民地時代から大規模で粗放的な綿花栽培が行われてきた。

④ オランダでは，大都市近郊において都市向けの作物を栽培する園芸農業が行われており，近年ではスマートアグリとよばれるハウス栽培も広がりつつある。

⑤ ケニアでは，植民地支配のもとで茶の栽培が行われてきたが，現在もプランテーション農業の一つとして茶の栽培が行われており，主要な輸出品である。

問31　世界と日本の林業について述べた次の各文のうち，**誤っているもの**を選びなさい。

① 熱帯の国々において木材が重要な国際商品となっている一方で，途上国では社会インフラの未整備により，木材を燃料として用いる用材の利用割合が高い国もある。

② 豊富な森林資源をもつ東南アジアでは積極的な丸太輸出が行われてきたが，1970年代には商業伐採や農地開発による熱帯林の減少が問題となり，その後輸出を規制する国が現れた。

③ 日本は高度経済成長期に安い輸入木材が増え，木材の自給率は急激に低下したが，2000年代に入ると，かつて植林した森林が成長して利用可能となり，林業政策の後押しも加わって木材自給率は上昇傾向にある。

④ 世界のパルプ生産は，アメリカ合衆国やカナダ，スウェーデン，フィンランドなどの冷帯林が中心であったが，ブラジルの熱帯林も生産が多くなっている。

⑤ ヨーロッパのように早くから森林開発が行われてきた地域では，木材の利用だけでなく植林による人工林の割合がほかの地域に比べると高くなっている。

問32　工業の立地について述べた次の各文のうち，正しいものを選びなさい。

① 鉄鋼業やセメント工業のように原料産地が特定の場所に限られ，製品の重量が原料の重量よりも大きい場合は，市場に近い場所に工業が立地する。

② 生産に多くの労働力を必要とする衣類や家電などは，発展途上国などの安価な労働力を求めて工業が立地する。

③ 様々な工業製品に使われる集積回路は，付加価値の高い軽薄短小な製品であることから，輸送コストを抑えるために交通の利便性が高い臨海部に工業が立地する。

④ 水や空気など，どこでも得られる原料が製品重量の大部分を占めている清涼飲料水やビールは，原料産地に近い場所に工業が立地する。

⑤ 自動車工業では，製造過程において大量の電力を消費するため，水力発電が盛んな国のように安価な電力が得られる場所に工業が立地する。

問33　次の表は，樹林気候のAf，Cs，Cfa，Df，Dwの気温と降水量を示したものである。表中のア～エに当てはまる気候区分の組合せが正しいものを選びなさい。

	1月	2月	3月	4月	5月	6月	7月	8月	9月	10月	11月	12月	全年
Af	26.8	27.3	27.9	28.2	28.6	28.5	28.2	28.1	28.0	27.9	27.2	26.8	27.8
	221.0	104.9	151.1	164.0	164.3	136.5	144.9	148.8	133.4	166.5	254.2	333.1	2122.7
ア	-6.2	-5.9	-0.7	6.9	13.6	17.3	19.7	17.6	11.9	5.8	-0.5	-4.4	6.3
	53.2	44.0	39.0	36.6	61.2	77.4	83.8	78.3	66.1	70.1	51.9	51.4	713.0
イ	21.6	21.7	20.2	17.7	15.3	13.1	12.5	12.9	14.4	16.8	18.5	20.6	17.1
	9.6	10.6	13.1	41.4	63.1	89.0	81.2	73.0	44.1	29.0	26.4	12.1	492.6
ウ	1.2	2.2	5.9	11.8	17.4	22.7	26.0	25.2	21.4	15.1	9.3	4.3	13.5
	82.7	74.1	102.1	97.4	91.3	102.8	107.3	111.9	97.8	97.0	79.8	104.6	1148.8
エ	-17.6	-14.0	-5.5	3.6	10.4	16.4	19.0	16.5	9.5	2.0	-7.9	-15.3	1.4
	14.6	9.7	11.8	21.6	35.2	68.6	101.4	96.5	52.6	21.1	20.2	18.5	471.8

※　上（気温）℃　　下（降水量）mm　　（理科年表2022ほか）

	ア	イ	ウ	エ
①	Dw	Cfa	Cs	Df
②	Dw	Cs	Cfa	Df
③	Df	Cfa	Cs	Dw
④	Df	Cs	Cfa	Dw

問34　次の表は，石炭の産出量と輸出量の上位７か国を示したものである。表中のＡ～Ｄに当てはまる国名の組合せが正しいものを選びなさい。

【石炭の産出】（万トン）

	2020年	%
A	390158	57.4
インド	71608	10.5
B	55264	8.1
オーストラリア	42578	6.3
C	33044	4.9
D	24711	3.6
アメリカ合衆国	21757	3.2

【石炭の輸出】（万トン）

	2020年	%
B	40623	31.0
オーストラリア	38872	29.7
C	19960	15.3
D	7306	5.6
コロンビア	6783	5.2
アメリカ合衆国	5891	4.5
カナダ	3145	2.4

（データブック オブ・ザ・ワールド　2024年版による）

	A	B	C	D
①	中　国	南アフリカ共和国	インドネシア	ロシア
②	中　国	インドネシア	南アフリカ共和国	ロシア
③	中　国	インドネシア	ロシア	南アフリカ共和国
④	ロシア	南アフリカ共和国	中　国	インドネシア
⑤	ロシア	インドネシア	中　国	南アフリカ共和国

問35　世界の貿易について述べた次の各文のうち，**誤っているもの**を選びなさい。

① 発展途上国は先進国に対して一次産品を輸出し，先進国は発展途上国に対して工業製品を輸出する水平貿易が行われ，この関係性により経済格差が広がった。

② 中国における工業の発達により，南アメリカやアフリカの国々からの食料品と原燃料の輸入が増え，中国とこれらの国々との貿易は垂直分業の関係になっている。

③ 第二次世界大戦以前に欧米諸国が行ってきた保護貿易によるブロック経済の反省から，戦後はGATTを締結し，自由貿易が促進された。

④ 21世紀に入り，日本の最大の貿易相手国はアメリカ合衆国から中国へと変わり，対中貿易では日本の輸入超過が続いている。

⑤ WTOの下では，加盟国があらゆる加盟国を貿易のうえで差別なく扱うことが原則であるが，いくつかの国同士で自由貿易協定（FTA）を結ぶことは例外的に認められている。

問36　南アジアについて述べた次の各文のうち，正しいものを選びなさい。

① 南アジアでは，季節風の影響で雨季と乾季が明瞭な地域が多く，６～10月にかけて南東方向から吹き込む季節風により大量の降雨がもたらされる。

② インドの言語は，インド・ヨーロッパ語族に分類され，ヒンディー語のほかに英語とタミル語が公用語となっており，準公用語として17の地方言語が認められている。

③ スリランカでは，仏教を信仰するシンハラ人が多数派を占め，インドから移住してきたヒンドゥー教を信仰する少数派のタミル人との間に対立がみられた。

④ インドでは，緑の革命といわれる高収量品種の導入を中心とした技術革新が進み，今では米の輸出上位国となり，農業における貧富の差は解消された。

⑤ バングラデシュは，BRICSの一国であり，アメリカ合衆国との時差を利用して，24時間体制でソフトウェア開発を行うなどICT産業が急成長している。

問37　アングロアメリカについて述べた次の各文のうち，**誤っているもの**を選びなさい。

① アメリカ合衆国の気候は，西経100度付近を境として東西で大きく異なっており，西部にはBWやBSが分布し農牧業には適さないため，放牧が行われている。

② アメリカ合衆国では，ヨーロッパ系白人のWASPが大半を占めている一方で，経済的な理由により，ヒスパニックやアジア系の移民が流入している。

③ アメリカ合衆国では，スノーベルトから工業が発展したが，温暖な気候や安価な労働力などを背景に1970年代ごろからサンベルトへと工業が移った。

④ カナダは多文化主義を掲げており，英語とフランス語が公用語となっているが，ケベック州ではフランス系住民が約８割を占めており，独立を目指す動きがある。

⑤ カナダの平原三州では，Df気候のもと小麦の生産が盛んであり，世界の小麦輸出上位国としても重要で，特にウィニペグは冬小麦の主産地となっている。

問38　ヨーロッパについて述べた次の各文のうち，正しいものを選びなさい。

① ヨーロッパは大陸の西側に位置していることから，偏西風と暖流の影響を受け大陸の東側に比べて気温の年較差が小さく，北緯60度を越える国々の気候も全てCfbである。

② ヨーロッパの農業は古代の二圃式農業を起源として様々な農業に分化しており，特に地中海式農業では冬の乾季にオリーブなどの樹木作物を栽培するのが特徴である。

③ ヨーロッパにおけるEUの歩みは1948年のベネルクス関税同盟から始まっており，リスボン条約によって1993年にECからEUへと発展的に転換した。

④ ヨーロッパはインド・ヨーロッパ語族で，イギリスなどのゲルマン語派，イタリアなどのラテン語派，ポーランドなどのスラブ語派が分布するが，ハンガリーやフィンランドはウラル語族である。

⑤ ヨーロッパでは温室効果ガスの排出を減らす取組が進んでおり，自転車専用レーンの設置や炭素税の導入がみられ，ドイツでは石炭の利用依存度も低下している。

問39　海岸砂漠の形成要因について，70字以内（句読点を含む）で説明しなさい。

問40　ロードプライシング制度の内容と目的について，70字以内（句読点を含む）で説明しなさい。

解答用紙（記述用）

地理歴史（歴　史）	1の1

（令和７年度）

受験番号	氏　　名
第　　番	

問24

10　20

問25

10　20

解答用紙（記述用）

地理歴史 （地　理）	1の1

（令和７年度）

受験番号	氏　　名
第　　番	

問39

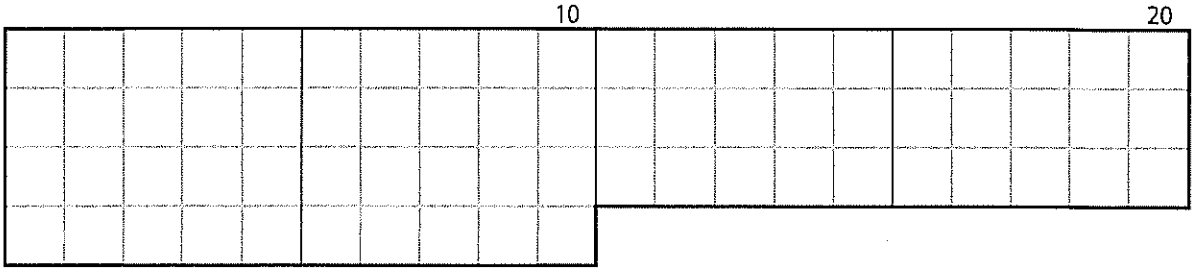

問40

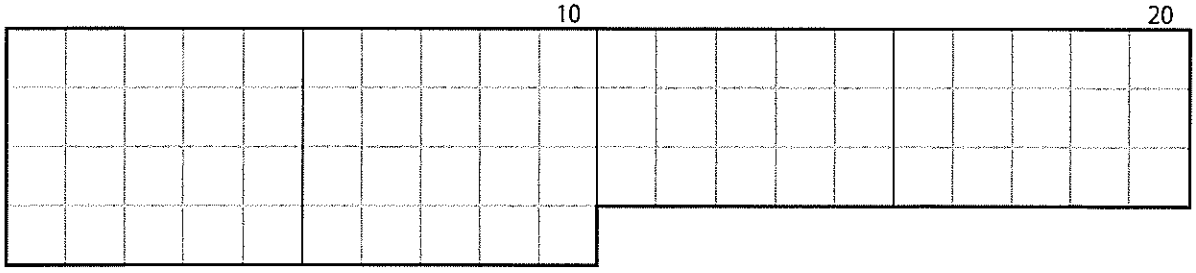

令和7年度 福岡県公立学校教員採用候補者選考試験 解答及び配点

教科・科目　　地理歴史

	解　答	配　点		解　答	配　点
問１	③	4	問２６	②	7
問２	⑤	4	問２７	④	7
問３	②	4	問２８	③	7
問４	④	4	問２９	①	7
問５	⑤	4	問３０	③	6
問６	③	4	問３１	①	7
問７	③	4	問３２	②	6
問８	①	4	問３３	④	7
問９	⑤	4	問３４	③	7
問１０	④	4	問３５	①	6
問１１	②	7	問３６	③	6
問１２	②	6	問３７	⑤	6
問１３	④	6	問３８	④	6
問１４	③	6	問３９	記述	13
問１５	③	7	問４０	記述	12
問１６	①	7	問４１		
問１７	④	7	問４２		
問１８	①	6	問４３		
問１９	⑤	7	問４４		
問２０	④	7	問４５		
問２１	②	7	問４６		
問２２	③	6	問４７		
問２３	④	6	問４８		
問２４	記述	12	問４９		
問２５	記述	13	問５０		

解答用紙（記述用）

地理歴史 （　　）	

（令和７年度）

受験番号	氏　　名
第　　番	解　答　例

問 24（12 点）

10　　20

ドイツ人顧問モッセの助言を得て山県有朋を中心に進められ，1888年に市制・町村制，1890年に府県制・郡制が公布され，地方自治制が確立した。

問 25（13 点）

10　　20

フセイン・マクマホンの協定でアラブ人にオスマン帝国からの独立を約束するアラブ方，バルフォア宣言でユダヤ人のシオニズム運動を支援することを約束した。

問 39（13 点）

10　　20

沿岸を流れる寒流によって生じその上空の空気は冷たく，下降気流が発生し高気圧に覆われるため，大気が安定し降水量が少なくなり砂漠が形成される。

問 40（12 点）

10　　20

平日の日中，都心部に乗り入れる自動車に対して課金する制度で，都心における自動車の交通量や，二酸化炭素の排出量を抑制することを目的とする。

令和７年度

福岡県公立学校教員

採用候補者選考試験問題

高等学校　公　民

1　高等学校公民の問題は下記のとおりです。
　　択一問題　　問１から問28まで
　　記述問題　　問29から問32まで

2　択一問題は，全て「ＯＣＲ解答用紙」に解答してください。

3　記述問題は，全て「解答用紙（記述用）」に解答してください。

問１ ～ 問28 の解答は，全て①～⑤から一つ選び，「ＯＣＲ解答用紙」にマークしなさい。

問１　次の文は，「高等学校学習指導要領」（平成30年３月告示）「第２章　各学科に共通する各教科」「第３節　公民」「第１款　目標」の一部である。文中の（　ア　）～（　エ　）の空欄に当てはまる語句の正しい組合せを選びなさい。

> （　ア　）な見方・考え方を働かせ，現代の諸課題を（　イ　）したり解決したりする活動を通して，広い視野に立ち，（　ウ　）化する国際社会に主体的に生きる平和で（　エ　）な国家及び社会の有為な形成者に必要な公民としての資質・能力を次のとおり育成することを目指す。
>
> ー　後　略　ー

	(ア)	(イ)	(ウ)	(エ)
①	社会的	追究	グローバル	民主的
②	科学的	探究	多様	民主的
③	社会的	追究	多様	民主的
④	科学的	探究	多様	文化的
⑤	社会的	探究	グローバル	文化的

問２　次の文は，「高等学校学習指導要領」（平成30年３月告示）「第２章　各学科に共通する各教科」「第３節　公民」「第２款　各科目」「第３　政治・経済」「１　目標」の一部である。文中の（　ア　）～（　エ　）の空欄に当てはまる語句の正しい組合せを選びなさい。

> (2)　国家及び社会の形成者として必要な選択・判断の（　ア　）となる考え方や政治・経済に関する概念や理論などを活用して，現実社会に見られる複雑な課題を把握し，説明するとともに，身に付けた（　イ　）を根拠に構想する力や，構想したことの（　ウ　）や効果，実現可能性などを指標にして議論し公正に判断して，合意形成や（　エ　）に向かう力を養う。

	(ア)	(イ)	(ウ)	(エ)
①	基準	判断基準	妥当性	社会参画
②	手がかり	判断基準	客観性	政治参加
③	手がかり	見方・考え方	妥当性	政治参加
④	手がかり	判断基準	客観性	社会参画
⑤	基準	見方・考え方	妥当性	社会参画

問３　次の文は，「高等学校学習指導要領」（平成30年３月告示）「第２章　各学科に共通する各教科」「第３節　公民」「第２款　各科目」「第１　公共」「３　内容の取扱い」の一部である。文中の（　ア　）～（　エ　）の空欄に当てはまる語句の正しい組合せを選びなさい。

> (3)　内容の取扱いに当たっては，次の事項に配慮するものとする。
> ア　この科目の内容の特質に応じ，（　ア　）のねらいを明確にした上でそれぞれ関係する（　イ　）や関係諸機関などとの連携・協働を積極的に図り，社会との関わりを意識した（　ウ　）を追究したり解決したりする活動の充実を図るようにすること。また，生徒が他者と共に生きる自らの（　エ　）に関わって主体的・対話的に考察，構想し，表現できるよう学習指導の展開を工夫すること。

	(ア)	(イ)	(ウ)	(エ)
①	指導	地域資源	問い	存在
②	学習	地域資源	問い	生き方
③	学習	専門家	問い	存在
④	学習	専門家	主題	生き方
⑤	指導	専門家	主題	存在

問４　次の生命をめぐる問題に関する記述のうち，誤っているものを選びなさい。

① 遺伝子組み換え技術は，農作物の品種改良で実用化されているが，食品としての安全性や生態系への影響などを懸念する声もある。

② 1997年に成立した臓器移植法では，脳死による臓器移植が認められなかったが，2010年施行の改正臓器移植法で，初めて脳死判定による臓器提供ができるようになった。

③ 再生医療において，ＥＳ細胞が注目されたが，ヒトの初期の受精卵から作製するため，倫理的な問題が指摘された。

④ ＱＯＬの立場から，終末医療において緩和ケアが重視され，延命治療を行うよりも，人間としての尊厳を保って命を全うすることを優先する尊厳死の考えも提唱されるようになった。

⑤ 終末期の医療方針においては，事前に文書で意思表示をしておくリヴィング・ウィルの考え方が尊重されるようになってきた。

問５　次の防衛機制に関する語句とその説明文の組合せのうち，正しいものを選びなさい。

	語　句	説　明　文
①	合理化	罪の意識や責任を感じることのないように欲求を抑えこむ。
②	投　射	小説の主人公などに自分を同化させて満足させる。
③	代　償	獲得できなかった欲求の対象に代え，別のもので満足しようとする。
④	退　行	自分が望んでいるのとは反対の行動をとろうとする。
⑤	昇　華	欲しいものが得られないとき，理由をつけて自分を納得させる。

問６　次の地球環境問題への国際的な取組に関する記述のうち，正しいものを選びなさい。

① 1973年に，絶滅の恐れのある野生動物の保護をはかるために，ラムサール条約が採択され，国際取引が制限された。

② 1992年に，先進国全体の温室効果ガスの排出量を減少させることを目的とした，アジェンダ21が採択された。

③ 1971年にワシントンで開催された地球サミットでは，オゾン層保護のためのバーゼル条約が締結され，特定フロンが1996年までに先進国で全廃された。

④ 1997年に採択された京都議定書では，「かけがえのない地球」のスローガンのもと，人間環境宣言が採択され，国連環境計画（ＵＮＥＰ）が設立された。

⑤ 2015年に採択されたパリ協定では，すべての参加国に温室効果ガスの削減目標の作成・提出と目標達成のための国内対策の実施が義務付けられた。

問７　次の民主政治の基本的原理に関する記述のうち，正しいものを選びなさい。

① ヨーロッパでは，18世紀頃から主権国家が衰退し，革命によって国王に権力が集中したが，この絶対王政を権威付けるために，国王の権力は神から与えられた絶対不可侵のものであると唱えられるようになった。

② イギリスのホッブズは『リバイアサン』で，国家のない自然状態は「万人の万人に対する闘争」状態になるため，自然法に従って共通のルールをつくり，社会契約を結んで国家をつくる必要があると説いた。

③ フランスのロックは，『法の精神』で，自然権を確実に保障するために政府を作る契約を結び，政府が市民の自然権を侵害した場合には，市民は政府を改め，新たな政府をつくる抵抗権（革命権）を行使できると説いた。

④ フランスのモンテスキューは，『社会契約論』で，個人はすべての自然権を市民社会に譲り渡す代わりに，人民の一般意思に基づいて政治が行われる人民主権の下で，個人が政治に直接参加する直接民主制を主張した。

⑤ 17世紀前半にイギリスの裁判官ブラクトンは，13世紀の法学者コークの「国王といえども神と法の下にある」ということばを引用して，王権に対するコモン・ローの優位を主張し，法治主義の考え方を示した。

問８　次の日本国憲法における自由権に関する記述のうち，誤っているものを選びなさい。

① 信教の自由とは，どの宗教を信じてもよいという意味であるが，「政教分離の原則」と一体の関係にある。三重県津市は，地鎮祭の費用を公費から支出したことが日本国憲法第20条，第89条に違反するとして提訴された。

② 日本国憲法では，第31条の罪刑法定主義の原則に立ち，現行犯逮捕以外の逮捕の場合や捜索・押収の場合には，裁判官の発する令状がなければならないことなどが定められている。

③ 日本国憲法では，刑事事件において，犯罪被害者の人権を保障するため，事後に制定された法でも被告人を有罪にすることが認められている。

④ 経済の自由を実現するために，職業を選択する自由が保障され，その中には，営業の自由が含まれると解されているが，日本国憲法は「公共の福祉に反しない限り」という制限を加えている。

⑤ 明治憲法下では，精神の自由は治安維持法などの治安立法によって著しく抑圧されていたが，日本国憲法では精神の自由を広範に保障している。

問９　次の日本の行政機構に関する記述のうち，正しいものを選びなさい。

① 内閣は，国民に対し連帯して責任を負い，衆議院が内閣不信任案を可決すれば，30日以内に衆議院を解散するか総辞職しなければならない。

② 内閣の活動は，内閣総理大臣が主宰し，内閣総理大臣と国務大臣とが構成する合議体である閣議の決定により行われる。

③ 内閣総理大臣は，国会議員のなかから国会が任命し，内閣総理大臣は他の国務大臣を指名し，罷免する権限を持っている。

④ 内閣は，国会が作成する予算に承認を与えたり，天皇の国事行為に対する助言と承認を行ったり，最高裁判所の長官を任命したりすることができる。

⑤ 法律を制定するのは国会の役目であるため，内閣提出法案による政府立法よりも，議員らが中心となって法案をつくる議員立法の方が，成立率が高い傾向にある。

問10　次の地方自治の仕組みを示した図に関し，「条例の制定・改廃請求」を示すものはどれか選びなさい。

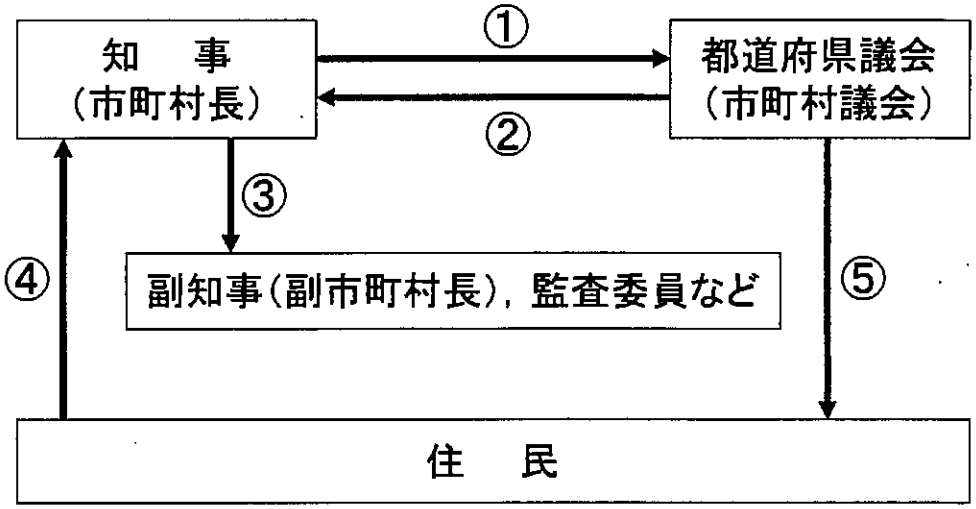

問11　次の政党政治に関する記述のうち，誤っているものを選びなさい。

① 二大政党制の下では，一つの政党による単独政権になりやすいが，多党制の下では，一つの政党で政権を運営できないため，連立政権になりやすい。

② 明治憲法の下では，尾崎行雄や犬養毅らが憲政擁護運動を展開し，その結果，1918年に本格的な政党内閣である原敬内閣が誕生した。

③ 第二次世界大戦後，自由党と社会民主党が合併して誕生した自由民主党と，再統一された日本社会党の連立政権を中心とした「55年体制」が形成された。

④ 2007年の参議院議員通常選挙の後，衆議院では与党が，参議院では野党が多数を占める，いわゆる「ねじれ国会」と呼ばれる状況となった。

⑤ 政治資金規正法では政治資金の透明化を図るため，政治家個人に対する企業団体献金が禁止され，政党や政治資金団体への献金額の上限が定められている。

問12　次の日本の裁判制度に関する記述のうち，正しいものを選びなさい。

① 裁判所には最高裁判所と高等裁判所に加え，下級裁判所である地方裁判所，家庭裁判所，簡易裁判所があり，下級裁判所の裁判官は最高裁判所により任命される。

② 日本国憲法では，司法権の濫用を抑制するため，国会に行政裁判所などの特別裁判所を設置することを認めている。

③ 刑事裁判では起訴された被告人は弁護人を立てることができるが，民事裁判における被告は弁護士を代理人として立てることができない。

④ 裁判員制度では，重大な刑事事件の第一審及び第二審で導入され，被告人が有罪か無罪かの事実認定のみを行い，裁判官が量刑判断を行う。

⑤ 有権者の中から選ばれた検察審査員によって構成される検察審査会が，同一の事件について再度起訴が相当と判断した場合，検察官に代わり弁護士が起訴することができる。

問13　次の第二次世界大戦後の軍縮に関する記述のうち，正しいものを選びなさい。

① 1955年にネルーとアインシュタインは，水素爆弾の脅威を世界に訴えて核廃絶のために科学者が結集することを呼びかけ，バンドン会議を開催した。

② 1962年のキューバ危機後に，アメリカとソ連によって，核兵器保有国を限定する包括的核実験禁止条約（ＣＴＢＴ）が調印された。

③ 1985年にソ連にゴルバチョフ政権が誕生すると，中距離核戦力（ＩＮＦ）全廃条約が調印され，アメリカとソ連の核軍縮が合意された。

④ 2017年にＮＡＴＯによって採択された核兵器禁止条約では，核兵器の使用や保有などを法的に禁止しており，日本も条件付きで参加を表明した。

⑤ 2023年現在，対人地雷やクラスター爆弾などの通常兵器に関する規制に関しては，各国の利害関係などから，条約の締結がなされていない。

問14　次の資本主義経済に関する記述のうち，誤っているものを選びなさい。

① アダム・スミスは，市場での自由競争によって経済が調整され，結果的に社会の富が増えていく機能を，神の「見えざる手」と表現した。

② アメリカのフランクリン・ローズベルト大統領は，大恐慌を克服するためにニューディール政策をとり，景気回復を試みた。

③ ケインズは，不況の原因は消費や投資などの有効需要の不足にあり，完全雇用を達成するためには，政府が財政・金融政策によって有効需要を増加させなければならない，と説いた。

④ フリードマンは，貨幣供給量の増加率を経済成長率に合わせて一定に保つマネタリズムこそが物価安定には有効だと主張した。

⑤ アメリカのニクソン政権，イギリスのサッチャー政権は，大きな政府を目指す新自由主義の立場をとった。

問15　次の市場の失敗に関する記述のうち，正しいものを選びなさい。

① トラストは，複数の企業が融資関係や人員派遣を通じて結合し，多くの産業を支配しようとするものである。

② 管理価格とは，自由市場において，需要が複数企業にしぼられ，協調ではなく競争によって決定される価格をいう。

③ 外部経済とは，公害や環境破壊のように，市場での取引を通じることなく，不利益を被る場合のことをいう。

④ 価格の下方硬直性とは，企業間の価格競争が強まると価格が変化する場合に下方には変化するが，上方には変化しない場合が多いことをいう。

⑤ 公共財は，多くの人々が同時に利用でき（非競合性），誰であっても利用を制限されない（非排除性）という性質をもっている。

問16　次の企業に関する記述のうち，誤っているものを選びなさい。

① コーポレート・ガバナンスとは，企業が不祥事を起こしたり，株主などの利益を損ねたりしないように企業経営を監視することである。

② キャピタルゲインとは，株価など資産価値の値上がりによって得られる利益のことである。

③ ディスクロージャーとは，人材におけるダイバーシティー（多様性）の推進など企業の社会的責任のことをさす。

④ ステークホルダーとは，株主だけでなく，従業員や消費者，関連企業や地域社会など多様な利害関係者のことをさす。

⑤ フィランソロピーとは，慈善行為など，企業の自発的な社会貢献活動の一例である。

問17　次の雇用と労働に関する記述のうち，正しいものを選びなさい。

① 労働委員会は，労働者委員，使用者委員，公益委員の三者によって構成され，国と都道府県に設置される。

② 労働基準法は，母体機能に有害な業務への就業禁止はもちろん，女性保護のため女性労働者の深夜労働を一律に禁止している。

③ 職能給や能力別賃金，産業別・職能別労働組合は，日本型雇用慣行であるが，年功序列型賃金を採用する企業も増えてきている。

④ 変形労働時間制とは，労働時間の管理を労働者本人にゆだねる制度のことで，どのような時間で働いても，雇用主との間であらかじめ定められた時間を働いたとみなされる。

⑤ ニートとは，非労働人口のうちで，就学しておらず，おもに家事を行う者でない15歳から59歳までの人々と定義されている。

問18　次の国際経済体制に関する記述のうち，年代の古い順から並び替えたときに，３番目に来るものとして正しいものを選びなさい。

① 紛争処理手続きが大幅に強化されるなどした世界貿易機関（ＷＴＯ）が，常設の国際機関として設立された。

② 国連総会は「国連開発の10年」を採択し，国連貿易開発会議（ＵＮＣＴＡＤ）が設立された。

③ 貿易を通じた途上国の開発が重要な課題となったドーハ開発アジェンダとも呼ばれるドーハラウンドの交渉が始まった。

④ スミソニアン協定が結ばれ，金価格に対する米ドルの切り下げ，円の対米ドル切り上げなどの調整が実施された。

⑤ 自由貿易の促進を目的として関税及び貿易に関する一般協定（ＧＡＴＴ）が締結された。

問19　次の新興国に関する記述のうち，誤っているものを選びなさい。

① 南アフリカ共和国は，アパルトヘイトの撤廃後，民主化を進め，ＢＲＩＣＳと呼ばれる高い経済成長を記録した国の一つとして注目された。

② 中国は「世界の工場」としての役割を担う一方，世界最大の人口等から「世界の市場」ともなっており，ＧＤＰでは，2010年に日本を抜いて，アメリカに次ぐ世界第２位となった。

③ アジアでは，ＡＳＥＡＮ（東南アジア諸国連合）のほか，2020年にはＲＣＥＰ（地域的な包括的経済連携）が署名されるなど，経済協力が進んでいる。

④ インドは，1990年代以降，ＩＴ産業の育成に注力し，南部の都市バンガロールには，ハイテク産業が集積して，「インドのシリコン・バレー」と呼ばれている。

⑤ タイは，アジア地域のインフラ整備を進めるために，主導してＡＩＩＢ（アジアインフラ投資銀行）という国際金融機関を創設した。

問20　次の記述のうち，日本の高度経済成長期に起こった出来事として誤っているものを選びなさい。

① 池田勇人内閣が，国民所得倍増計画を立て，経済成長策を積極的に推進した。

② ドッジ・ラインによって，補助金の削減，復金債の発行禁止，超均衡予算の実現，１ドル＝360円の単一為替レートの設定などが指示された。

③ 道路や港湾の建設といった建設国債の発行が開始された。

④ 国際収支の悪化を理由に為替制限ができないＩＭＦ８条国へ日本が移行した。

⑤ アメリカは，新経済政策を発表し金・ドル交換を停止した（ドル・ショック）。

問21　次のギリシアの思想に関する記述のうち，最も適切なものを選びなさい。

① 知識人ソフィストの代表者には，プロタゴラスやホメロスがおり，彼らはギリシア各地を巡りながら，授業料をとって教育を行った。

② ソクラテスは，相手と共同で問いと答えを繰り返しながら，真の知恵を発見させようとする問答法を通して，真理の探究を行った。

③ エレア学派の祖ヘラクレイトスは，「在るものは在り，在らぬもの（無）は在らぬ」と主張した。

④ プラトンは，ソクラテスの哲学を批判的に受け継ぎ，経験と感覚を重視する現実主義の哲学を主張した。

⑤ アリストテレスは，プラトンの哲学を受け，その問いかけに向き合う中でイデア論を提示して，理想主義の哲学を打ち出した。

問22　次の古代インド思想に関する記述のうち，適切でないものを選びなさい。

① 大乗仏教においては，あらゆる衆生はブッダとなる可能性を備えているとする一切衆生悉有仏性の思想や，発心さえすればそのまま仏となることができるとする即身成仏の思想などが生まれた。

② 部派仏教は，民衆の救済よりも，出家し，厳しい戒律を守って修行し，阿羅漢を理想として個人の悟りを求めることを重視した。

③ ナーガールジュナ（竜樹）は，空の思想によって縁起の法をとらえ返し，大乗仏教全般の基盤を築き上げた。

④ アサンガ（無著）とヴァスバンドゥ（世親）は，この世のあらゆる事物は実在せず，心の働きが生み出した表象（識）にすぎないとする唯識の思想を説いた。

⑤ ヴァルダマーナが創始したバラモン教は，快楽に身を寄せる立場と，苦行に身を苦しめる立場，いずれの極端をも排した「中道」に解脱の途を見い出した。

問23　次の人間と他者及び自然とのかかわりに関する記述のうち，最も適切なものを選びなさい。

① フランスの哲学者アーレントは，主著『全体性と無限』において近代哲学を批判し，「他者と出会う」とはどういうことかを問い直すことを通じて倫理を再考した。

② ホルクハイマーは，『全体主義の起源』『人間の条件』を著し，孤独と無力感に悩む個人は，自由を重荷と感じて，自由からの逃走を企てるようになると説いた。

③ ハーバーマスは，『論理哲学論考』や『哲学探究』を著し，哲学的問題を言語の問題としてとらえなおした。

④ サンデルは，『貧困と飢餓』を著し，「潜在能力」や「達成可能な生き方の幅」と訳されるケイパビリティを高めることが必要だと考えた。

⑤ ロールズは，『正義論』を主著に持ち，自由で平等な個人が社会の基本的なルールを相互に承認しあう「公正としての正義」を提唱した。

問24　次のカントに関する記述のうち，適切でないものを選びなさい。

① カントは，行為を善いものとするのは，その結果ではなく，義務であるからという動機なのだと述べた。このため，カントの立場は動機主義とよばれる。

② カントは，「認識が対象にしたがうのではなく，対象が認識にしたがうのである。」と表現し，こうした認識のとらえ方の百八十度の転換を，コペルニクス的転回といった。

③ カントは，経験を重視する経験論と理性を重視する合理論をいわば総合する形で人間の認識の仕組みを論じ，人間の科学的認識を基礎づけた。

④ カントは，人倫とは法と道徳とを統一したもので，精神の自由の理念が具体的な社会生活において，いきいきと実現されたものであると述べた。

⑤ カントは，各人がたがいの人格を目的として尊重しあうことによって結びつく社会を目的の国とよび，人類究極の理想の社会，理想の共同体を構想した。

問25　次の日本の思想家に関する記述のうち，最も適切なものを選びなさい。

① 中江藤樹は，朱子学批判から儒教解釈をしりぞけ，直接『論語』『孟子』に立ちもどれとする古学の方法を主張した。

② 山鹿素行は，道徳を実現すべきであるという点において，すべての人間は平等であると考え，あらゆる道徳の根源が「孝」であるととらえた。

③ 佐久間象山は，商人としての体験をふまえ，神道・儒教・仏教・老荘思想をとり入れながら，独自の処世哲学である心学を創始した。

④ 本居宣長は，国学の流れを集大成し，『古今和歌集』や『源氏物語』の雅やかな精神の中に，日本の道の本質があると考えた。

⑤ 安藤昌益は，農業とは，「おのずから」の働きとしての天道と「みずから」の働きとしての人道とがあいまって成り立つものだと説いた。

問26　次の宗教改革に関する記述のうち，最も適切なものを選びなさい。

① エラスムスは，教会の形式化，王侯貴族の功名心，聖職者の偽善等を鋭く風刺した『痴愚神礼讃』を著したヒューマニストである。

② マックス・ウェーバーは，罪からの救いは善行にあるのではなく，神への信仰のみにある，人間はただ神への信仰のみによって義とされるのであるという信仰義認論を説いた。

③ ルソーは，信仰のよりどころは儀式や慈善事業にではなく，聖書のみにあるという聖書中心主義をとり，聖職者と俗人との間の区別もとりはらう考えを示した。

④ マキャベリは，職業を神からの召命（天職）とし，職業から得られる富は正当であり，神聖なものであるとみなした。

⑤ カルヴァンは，『プロテスタンティズムの倫理と資本主義の精神』の中で，カルヴィニズムの職業倫理が資本主義を生み出す精神的基盤になったと述べている。

問27　次の古代中国思想に関する記述のうち，最も適切なものを選びなさい。

① 孟子は，性悪説を説き，人間は四つの徳の芽生えである四端の心を育み，仁・義・礼・智の四徳を実現できるよう修行に励むことが大切であると説いた。

② 荀子は，道徳は社会が混乱したために人間がやむを得ず作り出したものであり，自然に反するものであるとし，本当の道ではないと考えた。

③ 朱子は，人間の本性は欲望であるから，自然のままにしておけば必ず争いになると考え，礼治主義を説いた。その思想は弟子の韓非子や李斯に受け継がれた。

④ 老子は，天地万物に内在する宇宙の原理と万物の元素である運動物質によって世界の構造をとらえる理気二元論を唱えた。

⑤ 荘子は，知恵や執着を捨てて心を空しくし，己を忘れて自然の働きと一体となるとき，人間は本来の調和的世界におさまり，心の平和と自由が得られると説いた。

問28　次の日本及び西洋の社会主義思想に関する記述のうち，適切でないものを選びなさい。

① 片山潜，安部磯雄，木下尚江らは日本で初めての社会主義政党である社会民主党を結成し，その理念を掲げた「宣誓書」を起草し，新聞などに発表した。

② 幸徳秋水は，平民主義・社会主義・平和主義を柱とする「平民新聞」を創刊し，非戦論を主張し，平和を強く訴えた。

③ マルクスは，知性を問題の解決や環境への適応のための道具とみなし，プラグマティズムを実践的な思想として展開した。

④ 社会主義思想の先駆的な役割を担ったのは，イギリスのオーウェンやフランスのサン・シモン，フーリエで人道主義的な立場から資本主義を鋭く批判した。

⑤ フェビアン協会は，ウェッブ夫妻，バーナード・ショウらが中心となって，功利主義の影響を受け，設立された。

以下の問題は記述問題とする。 問29 ～ 問32 の解答は，全て「解答用紙（記述用）」に記入しなさい。

問29　日本国憲法第92条に示されている「地方自治の本旨」について，二つの原理を「統制」と「意思」の語句を用いて，60字以上80字以内で説明しなさい。

問30　租税の垂直的公平性について，具体的な税の名称をあげ，50字以内で説明しなさい。

問31　為替相場の変動によって，輸出企業の売り上げが影響を受けることがある。１ドル＝150円のとき日本の企業が自社製品をドル圏で販売し，３億ドルの売り上げがあった。その半年後に１ドル＝120円になったとき，この企業が同じく３億ドルの売り上げがあったとすれば，円に換算した売り上げ額はいくら増加または減少するか，答えなさい。

問32　『歎異抄』に記されている親鸞の思想「悪人正機」とはどのような思想か，次の語句をすべて用いて，60字以内で説明しなさい。

悪人，善人，煩悩，功徳

解答用紙（記述用）

公　民	2の1

（令和７年度）

受験番号	氏　　名
第　　番	

問29

10　　20

問30

10　　20

解答用紙（記述用）

公　民	2の2

（令和７年度）

受験番号	氏　　名
第　　番	

問31

問32

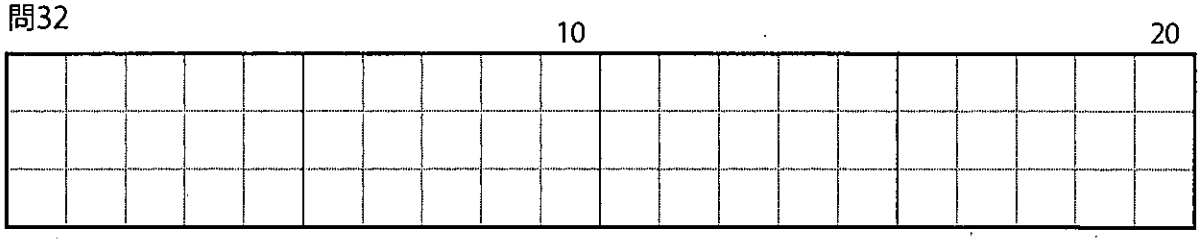

令和7年度　福岡県公立学校教員採用候補者選考試験　解答及び配点

教科・科目　　公民

	解　答	配　点		解　答	配　点
問１	①	3	問２６	①	4
問２	①	3	問２７	⑤	4
問３	④	3	問２８	③	3
問４	②	4	問２９	別紙	15
問５	③	3	問３０	別紙	10
問６	⑤	3	問３１	別紙	10
問７	②	4	問３２	別紙	15
問８	③	4	問３３		
問９	②	4	問３４		
問１０	④	3	問３５		
問１１	③	3	問３６		
問１２	⑤	4	問３７		
問１３	③	4	問３８		
問１４	⑤	3	問３９		
問１５	⑤	4	問４０		
問１６	③	3	問４１		
問１７	①	4	問４２		
問１８	④	4	問４３		
問１９	⑤	4	問４４		
問２０	②	4	問４５		
問２１	②	3	問４６		
問２２	⑤	4	問４７		
問２３	⑤	4	問４８		
問２４	④	3	問４９		
問２５	④	4	問５０		

解答用紙（記述用）

公　民	2の1

（令和７年度）

受験番号	氏　　名
第　　番	解　答　例

問 29

（解答例）

10　　20

地	方	公	共	団	体	が	,	国	の	統	制	を	受	け	ず	に	条	例	や
予	算	を	つ	く	り	,	そ	の	地	域	の	行	政	を	行	う	,	団	体
自	治	と	,	住	民	の	意	思	と	参	加	に	基	づ	い	て	地	域	の
政	治	を	行	う	,	住	民	自	治	の	原	理	を	さ	す	。			

問 30

（解答例）

10　　20

所	得	の	多	い	人	ほ	ど	,	多	く	税	負	担	を	課	す	こ	と	で
あ	り	,	累	進	課	税	制	度	を	適	用	し	て	い	る	所	得	税	や
相	続	税	が	例	で	あ	る	。											

解答用紙（記述用）

公　民	２の２

（令和７年度）

受験番号	氏　　名
第　　番	解　答　例

問 31

（解答例）

９０億円減少する。

問 32

（解答例）

10　　20

自	力	で	功	徳	を	積	む	こ	と	の	で	き	る	善	人	よ	り	も	,
煩	悩	に	と	ら	わ	れ	た	悪	人	こ	そ	が	阿	弥	陀	仏	の	救	い
に	ふ	さ	わ	し	い	対	象	で	あ	る	と	い	う	思	想	。			