令和８年度

福岡県公立学校教員

採用候補者選考試験問題

中　学　校　社　会

1　中学校社会の問題は下記のとおりです。
　　択一問題　問 1 ～問20
　　記述問題　問21 ～問24

2　択一問題は，全て「ＯＣＲ解答用紙」に記入してください。

3　記述問題は，全て「解答用紙（記述用）」に記入してください。

問１ ～ 問20 の解答は，全て [　　] の①～⑤から一つ選び，その番号を「ＯＣＲ解答用紙」にマークしなさい。

問１　次の文は，中学校学習指導要領解説社会編（平成29年文部科学省）「第２章　社会科の目標及び内容」「第１節　教科の目標」の一部を抜粋したものである。文中の（　ア　）～（　オ　）に当てはまる語句の正しい組合せを選びなさい。ただし，同じ記号には同じ語句が入る。

⑴　我が国の国土と歴史，現代の政治，経済，国際関係等に関して理解するとともに，調査や諸資料から様々な情報を効果的に調べ（　ア　）技能を身に付けるようにする。

我が国の国土と歴史，現代の政治，経済，国際関係等については，中学校社会科で扱う学習対象を示し，それらに関して理解するとは，単に知識を身に付けることではなく，基礎的・基本的な知識を確実に習得しながら，既得の知識と関連付けたり（　イ　）たりしていくことにより，学習内容の深い理解と，個別の知識の定着を図るとともに，社会における様々な場面で活用できる，（　ウ　）などに関する知識として獲得していくことをも示している。

調査や諸資料から様々な情報を効果的に調べ（　ア　）技能を身に付けるについては，調査活動や諸資料の活用など手段を考えて課題の解決に必要な社会的事象に関する情報を（　エ　）する技能，（　エ　）した情報を社会的な見方・考え方を働かせて読み取る技能，読み取った情報を課題解決に向けて（　ア　）技能を身に付けることを意味している。

これらの技能は，単元など内容や時間のまとまりごとに全てを身に付けようとするものではなく，資料の特性等とともに情報を（　エ　）する手段やその内容に応じて様々な技能や留意すべき点が存在すると考えられる。そのため，小学校の社会科での学習を踏まえるとともに，高等学校の地理歴史科，公民科での学習を視野に，中学校社会科の学習において生徒が身に付けることが目指される技能を（　オ　）し，その習熟を図るように指導することが大切である。

	ア	イ	ウ	エ	オ
①	まとめる	組み合わせ	概念	整理	効果的に活用
②	分析する	比較し	概念	収集	効果的に活用
③	まとめる	組み合わせ	概念	収集	繰り返し活用
④	分析する	組み合わせ	観念	整理	繰り返し活用
⑤	まとめる	比較し	観念	収集	効果的に活用

問２　次の文は，中学校学習指導要領解説社会編（平成29年文部科学省）「第２章　社会科の目標及び内容」「第２節　各分野の目標及び内容」「２　歴史的分野の目標，内容及び内容の取扱い」「⑵　内容」「Ｂ　近世までの日本とアジア」の一部を抜粋したものである。文中の（　Ａ　）～（　Ｅ　）に当てはまる語句の正しい組合せを選びなさい。ただし，同じ記号には同じ語句が入る。

⑴　古代までの日本

課題を追究したり解決したりする活動を通して，次の事項を身に付けることができるよう指導する。

ア　次のような知識を身に付けること。

㈠　世界の古代文明や宗教のおこり

㈡　日本列島における国家形成

㈢　律令国家の形成

㈣　古代の文化と東アジアとの関わり

イ　次のような思考力，判断力，表現力等を身に付けること。

㈠　古代文明や宗教が起こった場所や環境，農耕の広まりや生産技術の発展，東アジアとの接触や交流と政治や文化の変化などに着目して，事象を相互に関連付けるなどして，アの㈠から㈣までについて古代の社会の変化の様子を多面的・多角的に考察し，表現すること。

㈡　古代までの日本を（　Ａ　）して，時代の特色を多面的・多角的に考察し，表現すること。

アの㈠から㈣までの事項を学習するに当たっては，生徒の学習への動機付けや（　Ｂ　）を促しつつ，イの㈠の「古代文明や宗教が起こった場所や環境」，「農耕の広まりや生産技術の発展」，「東アジアとの接触や交流と政治や文化の変化」などに着目して，例えば，「本格的な稲作の広まりによって社会はどのように変化したのだろうか」，「中国をはじめとする東アジアとの交流は，日本の文化にどのような影響を与えたのだろうか」などの課題（問い）を設定することで，社会的事象の歴史的な見方・考え方を働かせて，その課題について，多面的・多角的に考察，表現できるようにすることが大切である。

イの㈡の（　Ａ　）して，時代の特色を多面的・多角的に考察し，表現することとは，「我が国の歴史の大きな流れ」を「各時代の特色を踏まえて理解する」という歴史的分野の学習の基本的なねらいを踏まえ，各中項目のまとめとして位置付けたものである。各時代の特色を大きく捉え，政治の展開，産業の発達，社会の様子，文化の特色など他の時代との（　Ｃ　）に着目して，学習した内容を比較したり関連付けたりするなどして，その結果を言葉や図などで表したり，互いに意見交換したりする活動を示している。

このような活動によって，「思考力，判断力，表現力等」を養うとともに，各時代の特色を生徒が（　Ｄ　）で表現できるような「（　Ｅ　）と定着を図る」（内容の取扱い⑴ウ）ことが求められる。

	A	B	C	D	E
①	大観	見通し	共通点や相違点	適切な方法	言語能力の育成
②	注視	主体性	共通点や相違点	適切な方法	言語能力の育成
③	注視	見通し	関係性や類似性	適切な方法	確かな理解
④	大観	主体性	関係性や類似性	自分の言葉	確かな理解
⑤	大観	見通し	共通点や相違点	自分の言葉	確かな理解

問３　次の文は，中学校学習指導要領解説社会編（平成29年文部科学省）「第３章　指導計画の作成と内容の取扱い」「２　内容の取扱いについての配慮事項」の一部を抜粋したものである。文中の（　ア　）～（　エ　）に当てはまる語句の正しい組合せを選びなさい。ただし，同じ記号には同じ語句が入る。

> ⑷　社会的事象については，生徒の考えが深まるよう様々な見解を提示するよう配慮し，多様な見解のある事柄，（　ア　）な事柄を取り上げる場合には，有益適切な教材に基づいて指導するとともに，特定の事柄を強調し過ぎたり，一面的な見解を十分な配慮なく取り上げたりするなどの偏った取扱いにより，生徒が多面的・多角的に考察したり，事実を客観的に捉え，（　イ　）したりすることを妨げることのないよう留意すること。

これは，各分野の指導において，社会的事象について多面的・多角的に考察したり，事実を客観的に捉え，（　イ　）したりすることのできる生徒の育成を目指す際の留意点を示したものである。

社会科の目標に規定されている「グローバル化する国際社会に主体的に生きる平和で民主的な国家及び社会の形成者に必要な公民としての資質・能力の基礎」を育成することに向けて，「多様な見解のある事柄，（　ア　）な事柄」なども含む現実の課題に関する社会的事象を取り扱うことは，生徒が現実の社会の在り方について具体的に考察，（　ウ　）したり，国民主権を担う公民としての自覚などを深めたりするために効果的である。一方，これらの社会的事象について，一面的な見解を十分な配慮なく取り上げた場合，ともすると恣意的な考察や判断に陥る恐れがあるため，このような規定を設けている。

「多様な見解のある事柄，（　ア　）な事柄」については，一つの見解が絶対的に正しく，他の見解は誤りであると断定することは困難であるとともに，一般に，とりわけ政治においては自分の意見をもちながら議論を交わし（　エ　）を図っていくことが重要であるから，公民的分野のみならず，地理的分野及び歴史的分野の学習においても，一つの結論を出すよりも結論に至るまでの冷静で理性的な議論の過程が大切であることを理解できるように指導し，全体として社会科の目標が実現されるように配慮することが必要である。

	ア	イ	ウ	エ
①	限定的	公平に選択	構想	意思決定
②	未確定	公平に選択	検討	意思決定
③	未確定	公正に判断	検討	意思決定
④	未確定	公正に判断	構想	合意形成
⑤	限定的	公正に判断	構想	合意形成

※　次の略地図を見て，問４～５に答えなさい。ただし，各略地図の縮尺は同じではない。

《略地図》

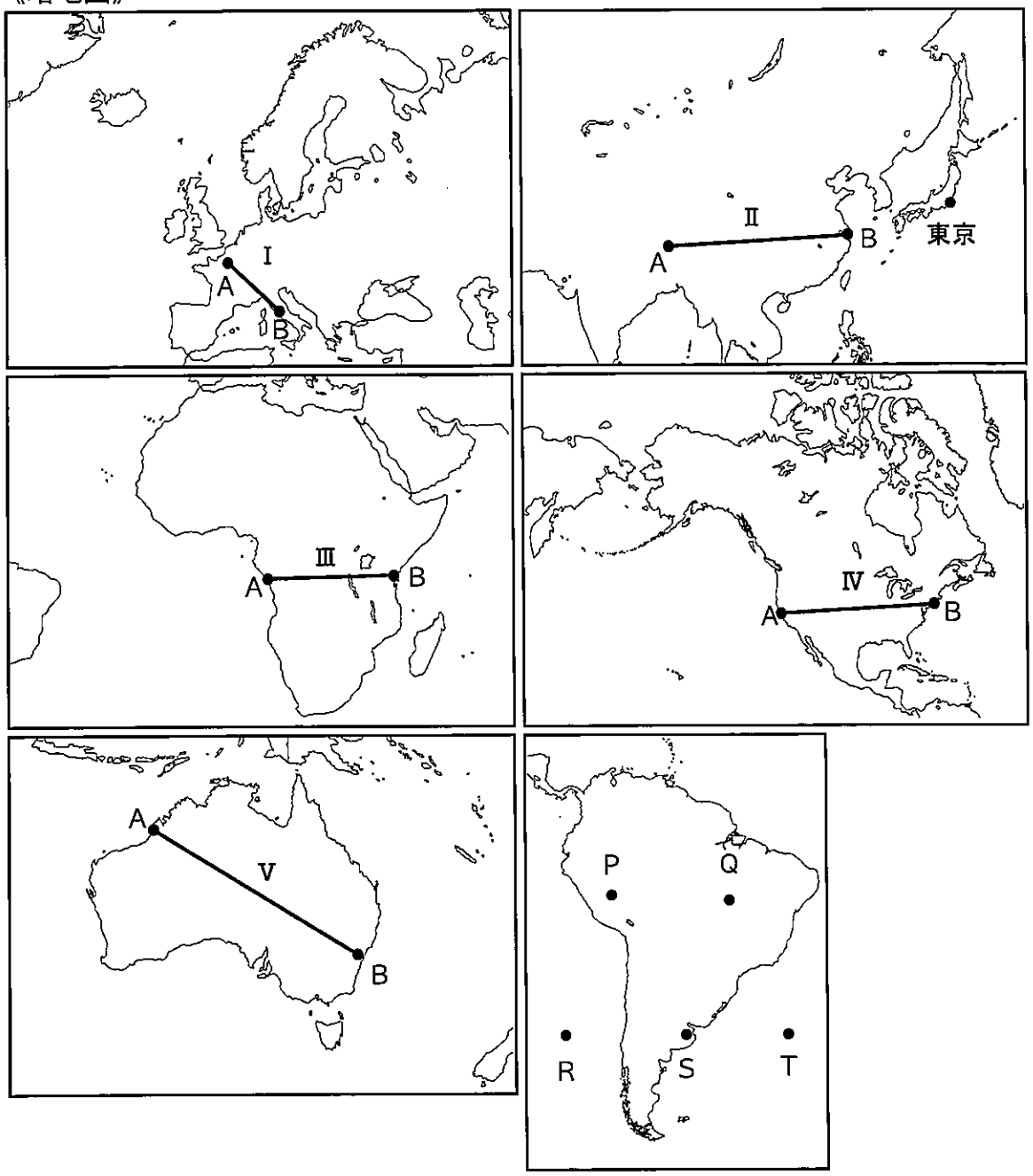

問４　略地図中Ⅰ～Ⅴの線は，ある２都市間を結んだものである。これらの線で切った《断面図》として正しい組合せを選びなさい。

《断面図》

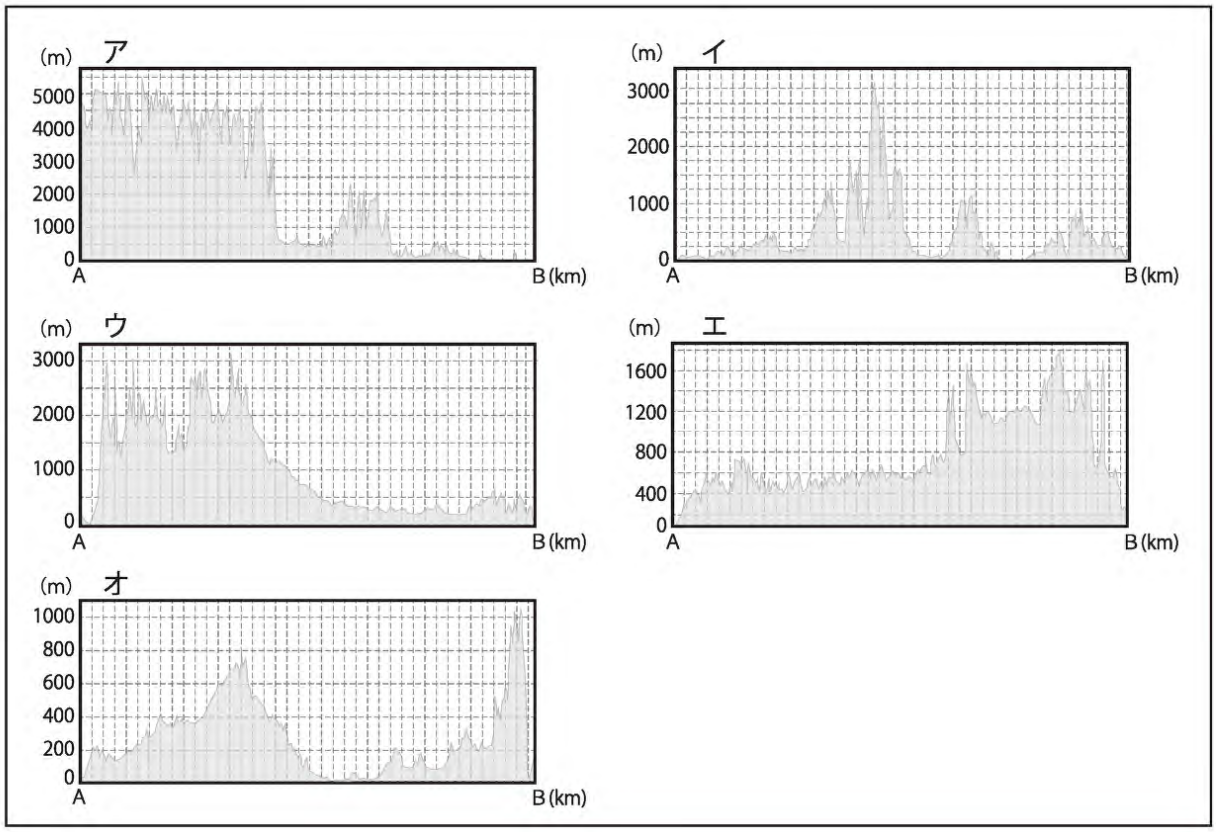

（国土地理院ＨＰから作成）

	Ⅰ	Ⅱ	Ⅲ	Ⅳ	Ⅴ
①	イ	ア	エ	ウ	オ
②	エ	ア	イ	ウ	オ
③	エ	オ	イ	ア	ウ
④	イ	ア	エ	オ	ウ
⑤	イ	エ	ア	オ	ウ

問５　略地図中Ｐ～Ｔのうち，東京の対蹠点として最も適切なものを選びなさい。

①	P
②	Q
③	R
④	S
⑤	T

※　次の略地図を見て，問６に答えなさい。

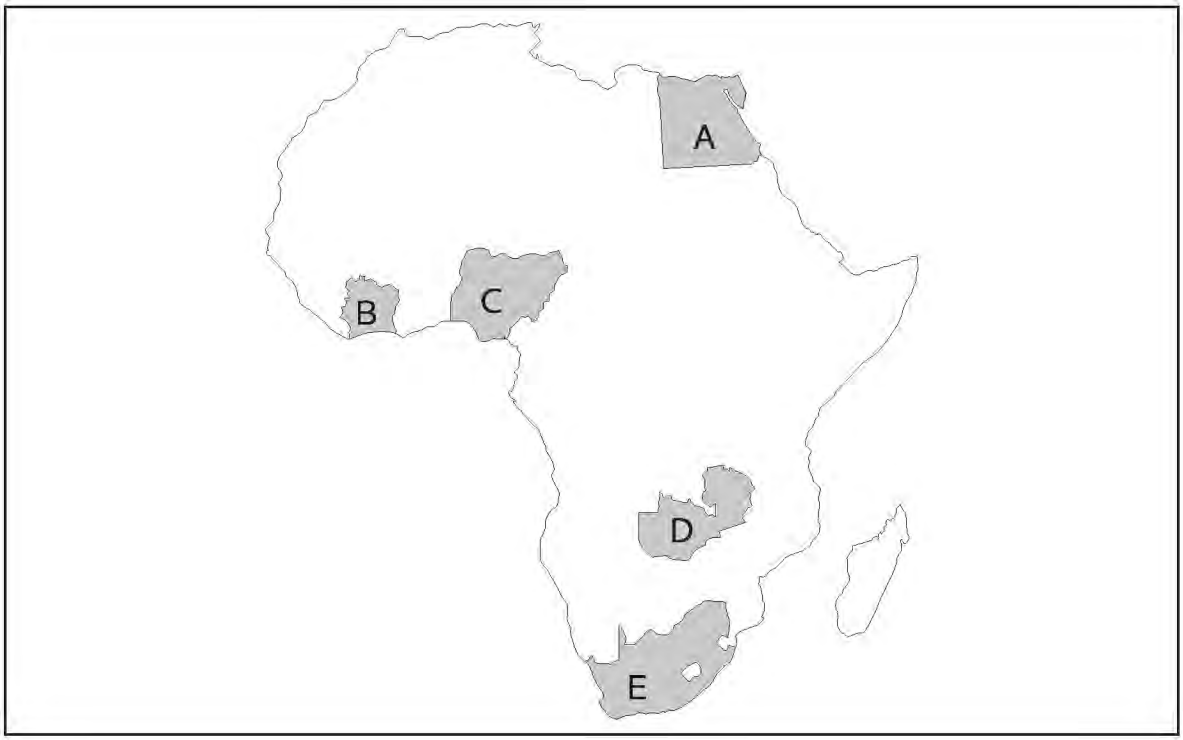

問６　次の《資料》中のア～オは，略地図中Ａ～Ｅの国のいずれかを示している。Ａ～Ｅに当てはまる国の正しい組合せを選びなさい。

《資料》

	人口（千人） 2023年	1人あたりＧＮＩ（ドル） 2022年	おもな輸出品 2022年
ア	223,805	1,998	原油・液化天然ガス
イ	60,414	6,615	プラチナ・石炭
ウ	112,717	3,566	液化天然ガス・石油製品
エ	20,570	1,349	銅・鉄鋼
オ	28,873	2,409	カカオ豆・石油製品

（「世界国勢図会2024/25」から作成）

	A	B	C	D	E
①	ウ	オ	ア	イ	エ
②	ウ	イ	ア	エ	オ
③	エ	イ	ウ	ア	オ
④	エ	オ	ウ	ア	イ
⑤	ウ	オ	ア	エ	イ

問７　次の《会話文》は，るいさんと，ひなたさんが《写真Ⅰ》と《写真Ⅱ》を見て話している場面である。《会話文》中の（　A　），（　B　）に当てはまる語句の正しい組合せを選びなさい。

《会話文》

るい　：今日は海岸の地形について学習したね。
ひなた：《写真Ⅰ》では，沖合の島と海岸を結び付けるように伸びた砂州が分かるね。これを（　A　）と言うよ。
るい　：《写真Ⅱ》では，（　B　）と呼ばれる，砂州などで外海と隔てられた水域がみられるよ。
ひなた：このほかにも様々な地形があるみたいだ。これからも調べてみよう。

《写真Ⅰ》

《写真Ⅱ》

	A	B
①	トンボロ	ドリーネ
②	ラグーン	トンボロ
③	モレーン	ドリーネ
④	トンボロ	ラグーン
⑤	モレーン	ラグーン

※　次の略地図を見て，問８に答えなさい。

問８　次の《資料》中のア～オは略地図中Ａ～Ｅのいずれかの府県を示している。Ａ～Ｅに当てはまる府県の正しい組合せを選びなさい。

《資料》

	乗用車の100世帯あたり保有台数（台）2022年度	社会増減率（%）2021 ～ 22年	民営事業所数 2021年	宿泊施設での延べ外国人宿泊者数（千人泊）2022年
ア	113.5	−0.19	59,710	33
イ	68.0	0.36	285,325	509
ウ	80.2	0.16	110,564	1,413
エ	62.7	0.26	384,332	2,130
オ	125.9	0.16	95,305	66

（「データで見る県勢2024」から作成）

	A	B	C	D	E
①	オ	イ	ウ	ア	エ
②	オ	ア	ウ	エ	イ
③	ウ	イ	エ	オ	ア
④	ウ	ア	エ	オ	イ
⑤	オ	イ	ウ	エ	ア

問９　次の《資料Ⅰ》～《資料Ⅲ》中のア～クは九州地方各県のいずれかを示している。《資料Ⅰ》は製造品出荷額等とその内訳，《資料Ⅱ》は農業産出額，《資料Ⅲ》は耕地率と耕地面積を示している。ウ，オに当たる県の組合せとして正しいものを選びなさい。ただし，同じ記号には同じ県が入る。

《資料Ⅰ》製造品出荷額等とその内訳（2021年）

《資料Ⅱ》農業産出額（2021年）

	（億円）
ア	1,206
イ	3,478
ウ	3,477
エ	1,968
オ	1,551
カ	922
キ	1,228
ク	4,997

《資料Ⅲ》耕地率と耕地面積（2022年）

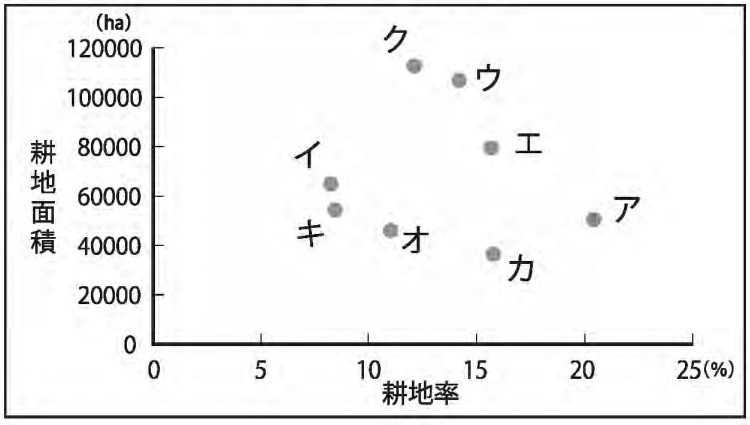

（「データで見る県勢 2024」から作成）

	ウ	オ
①	熊本県	大分県
②	宮崎県	長崎県
③	熊本県	長崎県
④	宮崎県	佐賀県
⑤	鹿児島県	佐賀県

問10　次の各文は，古代における我が国の様子について述べたものである。文中の（　ア　）～（　オ　）に当てはまる最も適切な語句の組合せを選びなさい。

○　５世紀初めから約１世紀近くのあいだ,『宋書』倭国伝に讃・珍・済・興・武と記された倭の五王が冊封を求めて中国の（　ア　）に朝貢した。

○　敏達天皇の后で，最初の女性天皇である推古天皇が飛鳥で即位し，国際的な緊張のもとで大臣の（　イ　）や推古天皇の甥の厩戸王（聖徳太子）らが協力して国家組織の形成を進めた。

○　律令国家では，民衆は戸籍・計帳に登録され，負担が課せられた。（　ウ　）は口分田などの収穫から３％程度の稲をおさめるもので，おもに諸国の各郡におかれた正倉に貯蔵された。

○　最澄は，遣唐使に従って入唐し，帰国したあとに（　エ　）を始め，最澄の開いた比叡山からは，多くの優れた僧が育った。

○　摂政・関白がおかれずに親政がおこなわれた醍醐天皇及び（　オ　）の時代は，のちに「延喜・天暦の治」と称されるようになった。

	ア	イ	ウ	エ	オ
①	北朝	藤原不比等	租	真言宗	後一条天皇
②	北朝	蘇我馬子	調	真言宗	村上天皇
③	南朝	蘇我馬子	租	真言宗	後一条天皇
④	南朝	藤原不比等	調	天台宗	村上天皇
⑤	南朝	蘇我馬子	租	天台宗	村上天皇

問11　次の文は，13世紀から14世紀における東アジアについて述べたものである。文中の下線部ａ～ｅのうち，正しいものを○，誤っているものを×としたとき，正しい組合せを選びなさい。

> モンゴル高原から華北・チベット・朝鮮半島などの地域を勢力基盤としたフビライ＝ハンは，元という中国風の国名を定め，都を$_{a}$長安に移した。1276年に元は$_{b}$南宋を滅ぼし，中国全土の支配を完成させた。
> フビライ＝ハンに仕えたとされるイタリアの商人マルコ＝ポーロの見聞をまとめた旅行記『$_{c}$集史』は，ヨーロッパで大きな反響を呼んだ。
> 14世紀半ばに$_{d}$黄巾の乱をはじめとする反乱が各地でおこり，1368年に元は$_{e}$明軍に$_{a}$長安を奪われて，モンゴル高原に退いた。

	a	b	c	d	e
①	×	×	○	○	○
②	×	○	×	×	○
③	×	○	×	○	×
④	○	×	×	○	×
⑤	○	○	○	×	×

問12　次の《資料》は，11世紀から15世紀における我が国の主な出来事を左から順に示している。《資料》中の（　ア　）～（　オ　）には，《語群》ａ～ｅのいずれかが入る。（　ア　）～（　オ　）に当てはまる最も適切な組合せを選びなさい。

《資料》

時代	（平安）		（鎌倉）			（室町）				
主な出来事	（ア）	平清盛が太政大臣になる 保元の乱	源頼朝が征夷大将軍になる	（イ） 承久の乱	弘安の役 文永の役	（ウ）	足利尊氏が征夷大将軍になる 建武の新政	足利義満が幕府を室町に移す	（エ）	（オ）	応仁の乱

《語群》

a	正長の徳政一揆
b	永仁の徳政令
c	南北朝の統一
d	白河上皇が院政をはじめる
e	御成敗式目の制定

	ア	イ	ウ	エ	オ
①	d	e	a	c	b
②	d	e	b	c	a
③	e	d	c	b	a
④	e	d	a	b	c
⑤	d	e	b	a	c

問13 《資料》中のａ～ｄは，近世から近代における我が国の政治や外交に関する文書の一部である。ａ～ｄの年代を，古い順に正しく並びかえたものを選びなさい。

《資料》

a	第１条　朝鮮国は自主の国であり，日本国と平等の権利をもつ。 第10条　日本国の人民が朝鮮国の貿易港で罪を犯し，朝鮮国の人民と交渉が必要な事件は，すべて日本国の領事が裁判を行う。 第11条　両国は，別に通商の決まりを定め，両国の商人の便を図る。 （一部要約）
b	イギリスに限らず，南蛮や西洋の国は幕府が厳禁しているキリスト教の国であるから，今後はどこの海辺の村においても，外国船が乗り寄せてきたのを見たならば，その村にいる人々で，ためらうことなく，ひたすら撃退し，もし強引に上陸したならばつかまえ，場合によっては討ち取っても差し支えない。 （部分要約）
c	一　中国政府は，ドイツが山東省にもっている一切の権益を日本にゆずる。 一　日本の旅順・大連の租借の期限，南満州鉄道の期限を99か年延長する。 一　中国政府は，南満州・東部内蒙古における鉱山の採掘権を日本国民に与える。 （一部要約）
d	第３条　下田・函館のほか，神奈川，長崎，新潟，兵庫を開港すること。…神奈川を開いた６か月後，下田を閉ざすこと。 第６条　日本人に対して法を犯したアメリカ人は，アメリカ領事裁判所において取り調べのうえ，アメリカの法律によってばっすること。 （部分要約）

①	b → a → d → c
②	b → d → c → a
③	b → d → a → c
④	d → a → b → c
⑤	d → b → c → a

問14　次の《会話文》は，あおいさんと，まことさんが《写真》中のａ～ｅを見て人物の業績について会話をしている場面である。《会話文》中の下線部ａ～ｅのうち，正しいものを○，誤っているものを×としたとき，正しい組合せを選びなさい。なお，《写真》中のａ～ｅと《会話文》中の下線部ａ～ｅは対応しているものとする。

《写真》

ａ　一万円札（令和６年７月発行開始）の人物

ｂ　五千円札（令和６年７月発行開始）の人物

ｃ　千円札（令和６年７月発行開始）の人物

ｄ　旧一万円札（平成16年11月発行開始）の人物

ｅ　旧五千円札（平成16年11月発行開始）の人物

《会話文》

あおい：お札に肖像として描かれた人物を調べると，一万円札は，a第一国立銀行や大阪紡績会社など多くの企業の設立・経営に関わり，産業の発展に力を尽くした人物だね。

まこと：五千円札は，b岩倉使節団に同行し，後に女子英学塾をつくって女子教育に生涯をささげた人物だね。

あおい：また，千円札は，cドイツ留学中にタカジアスターゼを発明し，アドレナリンの抽出に成功して海外で評価される成果をあげた人物だね。

まこと：旧一万円札は，d『民約訳解』を刊行し，国民の考え方を転換させるうえで大きな働きをした人物だね。

あおい：また，旧五千円札は，e詩歌の分野で活躍し，日露戦争に出兵した弟を思って，文芸誌『明星』に「君死にたまふこと勿れ」とうたう反戦詩を発表した人物だね。

	a	b	c	d	e
①	○	○	×	×	×
②	×	×	×	○	○
③	○	○	○	○	×
④	×	○	×	×	○
⑤	○	×	○	×	×

問15　次のａ～ｅの各文は，1950年以降の我が国の様子を述べたものである。ａ～ｅの出来事を古い順に並べたとき，古い方から２番目と４番目に当たる正しい組合せを選びなさい。

a	循環型社会形成推進基本法が制定された。
b	テレビ放送が開始された。
c	地球温暖化防止京都会議が開かれ，京都議定書が採択された。
d	環境庁が設置された。
e	東海道新幹線が開通した。

	２番目	４番目
①	b	a
②	b	c
③	e	c
④	e	d
⑤	e	a

問16　次のア～エの各文は，日本国憲法について述べたものである。正しいものを○，誤っているものを×としたとき，正しい組合せを選びなさい。

ア	職業選択の自由や財産権の保障，居住・移転の自由といった，経済活動の自由を保障している。
イ	ひとつの地方公共団体のみに適用される特別法を国会が制定するためには，その地方公共団体の住民の投票においてその３分の２以上の同意を得なければ，制定することができない。
ウ	団結権や団体交渉権，団体行動権（争議権）を保障している。
エ	国民は，納税の義務，教育を受ける義務，勤労の義務を負うことが定められている。

	ア	イ	ウ	エ
①	○	×	×	○
②	○	○	×	×
③	○	×	○	×
④	×	○	×	○
⑤	×	×	○	×

問17　次の《資料》は，衆議院の優越について示したものである。《資料》中の（　ア　）～（　オ　）に当てはまる最も適切な語句や数の正しい組合せを選びなさい。ただし，同じ記号には同じ語句が入る。

《資料》

<table>
<tr><th>事項</th><th>内容</th><th>結果</th></tr>
<tr><td>（　ア　）の先議</td><td colspan="2">（　ア　）は衆議院が先に審議する</td></tr>
<tr><td>（　ア　）の議決</td><td rowspan="3">①　衆議院と参議院とで異なる議決をし，必ず開かれる（　ウ　）でも不一致の場合
②　参議院が，衆議院の可決した議案を受け取って30日以内（（　イ　）の指名は10日以内）に議決しない場合</td><td rowspan="3">衆議院の議決が国会の議決となる</td></tr>
<tr><td>条約の承認</td></tr>
<tr><td>（　イ　）の指名</td></tr>
<tr><td>法律案の議決</td><td>①　衆議院で可決し参議院でそれと異なる議決をした場合
②　参議院が，衆議院の可決した法律案を受け取って（　エ　）日以内に議決しない場合</td><td>衆議院で出席議員の３分の２以上の多数で再可決すれば法律となる</td></tr>
<tr><td>（　オ　）の決議</td><td colspan="2">（　オ　）の決議は衆議院のみで行うことができる</td></tr>
</table>

	ア	イ	ウ	エ	オ
①	予算	国務大臣	両院協議会	60	内閣不信任
②	予算	内閣総理大臣	両院協議会	60	内閣不信任
③	政令	内閣総理大臣	公聴会	50	内閣総理大臣の問責
④	政令	国務大臣	公聴会	50	内閣不信任
⑤	予算	内閣総理大臣	両院協議会	50	内閣総理大臣の問責

問18　次の《ノート》は，ちはるさんが金融政策についてまとめたものである。《ノート》中の（　ア　）～（　オ　）に当てはまる最も適切な語句の正しい組合せを選びなさい。

《ノート》

物価の変動をおさえて，景気を安定させるために，日本銀行は金融政策を行います。日本銀行は，景気を安定させる方法として公開市場操作（オペレーション）を使っています。

公開市場操作（オペレーション）を図にしたもの

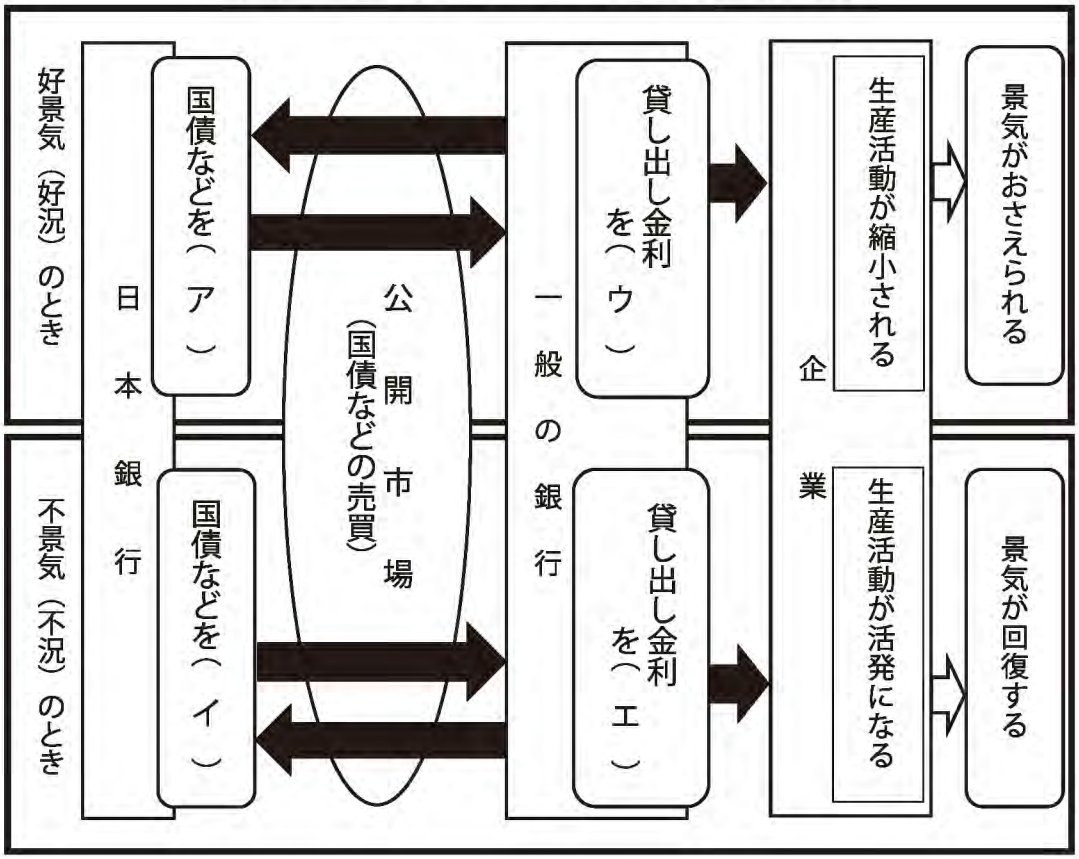

かつては，日本銀行が一般の銀行にお金を貸し出すときの金利である（　オ　）を直接上げ下げすることが金融政策の基本的な手段でしたが，現在は公開市場操作（オペレーション）が主に用いられています。

	ア	イ	ウ	エ	オ
①	売る	買う	下げる	上げる	預金準備率
②	売る	買う	上げる	下げる	預金準備率
③	買う	売る	下げる	上げる	公定歩合
④	買う	売る	上げる	下げる	預金準備率
⑤	売る	買う	上げる	下げる	公定歩合

問19　次の《会話文》は，「日本の農業」というテーマで，つばささんと，みつきさんが話している場面である。《会話文》中の（　ア　）～（　エ　）に当てはまる最も適切な語句の組合せを選びなさい。

《会話文》

つばさ：日本の農業には，従事している人が減少していることや，後継者不足といった問題があるね。

みつき：2018年に調印・発効した（　ア　）協定などにより，農作物などの関税が削減・撤廃され，日本の農業は大きな打撃を受けるという指摘があるよ。

つばさ：食料安全保障の観点から農業は重要だね。

みつき：それに加えて，1999年に制定された（　イ　）の基本理念の一つである「農業の有する多面的機能の発揮」についても忘れてはいけないよ。

つばさ：農業を魅力ある産業にするために，どのようなことが行われているのかな。

みつき：農業を機械化したり経営規模を拡大したりすることが行われているよ。また，付加価値を高めるために，生産・加工・販売を一体化して事業を行う（　ウ　）が試みられているよ。

つばさ：他にもいろいろな試みが行われているね。

みつき：地域の伝統的な食文化や食材を守るスローフードの運動や，緑豊かな農村地域において，自然や文化，人々との交流を楽しむ，滞在型の余暇活動である（　エ　）が取り組まれているよ。

	ア	イ	ウ	エ
①	ＴＰＰ11	農地法	六次産業化	フィンテック
②	ＴＰＰ11	食料・農業・農村基本法	六次産業化	グリーン・ツーリズム
③	ＴＰＰ11	食料・農業・農村基本法	スマートグリッド	グリーン・ツーリズム
④	ＣＯＰ21	食料・農業・農村基本法	スマートグリッド	フィンテック
⑤	ＣＯＰ21	農地法	スマートグリッド	グリーン・ツーリズム

問20　次の《資料》中のア～エは，それぞれヨーロッパ連合（ＥＵ），東南アジア諸国連合（ＡＳＥＡＮ），米国・メキシコ・カナダ協定（ＵＳＭＣＡ），南米南部共同市場（ＭＥＲＣＯＳＵＲ）の人口，ＧＤＰ，貿易額について示したものである。ア，ウに当てはまる正しい組合せを選びなさい。

《資料》　（2022年）

	人口（百万人）	ＧＤＰ（億ドル）	貿易額（億ドル）	
			輸出	輸入
ア	680	36,274	19,595	18,765
イ	504	293,454	32,419	45,816
ウ	447	167,268	71,769	74,916
エ	312	28,374	4,621	4,258

（「世界国勢図会2024/25」から作成）

	ア	ウ
①	東南アジア諸国連合（ＡＳＥＡＮ）	米国・メキシコ・カナダ協定（ＵＳＭＣＡ）
②	南米南部共同市場（ＭＥＲＣＯＳＵＲ）	米国・メキシコ・カナダ協定（ＵＳＭＣＡ）
③	ヨーロッパ連合（ＥＵ）	南米南部共同市場（ＭＥＲＣＯＳＵＲ）
④	南米南部共同市場（ＭＥＲＣＯＳＵＲ）	ヨーロッパ連合（ＥＵ）
⑤	東南アジア諸国連合（ＡＳＥＡＮ）	ヨーロッパ連合（ＥＵ）

※以下の問題は記述問題とする。
次の 問21 ～ 問24 の解答は，全て「解答用紙（記述用）」に記入しなさい。

問21　次の⑴，⑵の各問いに答えなさい。

⑴　次の文は，中学校学習指導要領解説社会編（平成29年文部科学省）「第２章　社会科の目標及び内容」「第２節　各分野の目標及び内容」「１　地理的分野の目標，内容及び内容の取扱い」「⑴　目標」の一部を抜粋したものである。文中の（　a　），（　b　）に当てはまる語句を答えなさい。ただし，同じ記号には同じ語句が入る。

　地理的分野において養われる思考力，判断力とは，社会的事象の地理的な見方・考え方を用いて，地理に関わる事象の意味や意義，特色や相互の関連を多面的・多角的に考察する力，地理的な課題を把握して，解決に向けて学習したことを基に複数の立場や意見を踏まえて選択・判断できる力を意味している。
　位置や（　a　），場所，人間と自然環境との（　b　）関係，空間的（　b　）作用，地域などについては，社会的事象を「地理に関わる事象」として捉える際の，社会に見られる課題を「地理的な課題」として考察する際の視点である。よって，それらの視点に着目することで，社会的事象を地理に関わる事象，すなわち地理的な事象として見いだしたり，社会に見られる課題を「地理的な課題」として考察したりすることを可能にするものである。

⑵　次の文は，中学校学習指導要領（平成29年３月告示）「第２章　各教科」「第２節　社会」「第２　各分野の目標及び内容」〔公民的分野〕「２　内容」「Ａ　私たちと現代社会」の一部を抜粋したものである。文中の（　c　）～（　e　）に当てはまる語句を答えなさい。ただし，同じ記号には同じ語句が入る。

⑵　現代社会を捉える枠組み
　対立と（　c　），効率と公正などに着目して，課題を追究したり解決したりする活動を通して，次の事項を身に付けることができるよう指導する。
ア　次のような知識を身に付けること。
　(ア)　現代社会の見方・考え方の基礎となる枠組みとして，対立と（　c　），効率と公正などについて理解すること。
　(イ)　人間は本来社会的存在であることを基に，（　d　）と両性の本質的平等，（　e　）の重要性やそれを守ることの意義及び個人の責任について理解すること。
イ　次のような思考力，判断力，表現力等を身に付けること。
　(ア)　社会生活における物事の決定の仕方，（　e　）を通した個人と社会との関係，きまりの役割について多面的・多角的に考察し，表現すること。

問22　次の《会話文》は，東京に住んでいるひかるさんと，世界のある都市に住んでいるあすかさんが電話で話をしている場面である。あすかさんが住んでいる都市を《略地図》中のア～カから一つ選び，記号で答えなさい。

《会話文》

ひかる：こんにちは，元気にしていますか。
　　こちらは午後４時で，学校から帰ってきたところなんだ。
　　今，何をしているのかな。
あすか：こちらは午後11時になったところで，寝る準備をしていたところだよ。
　　今度，日本に遊びに行こうと思っているんだ。
ひかる：そうなんだ。今度会えるのを楽しみにしておくね。

《略地図》

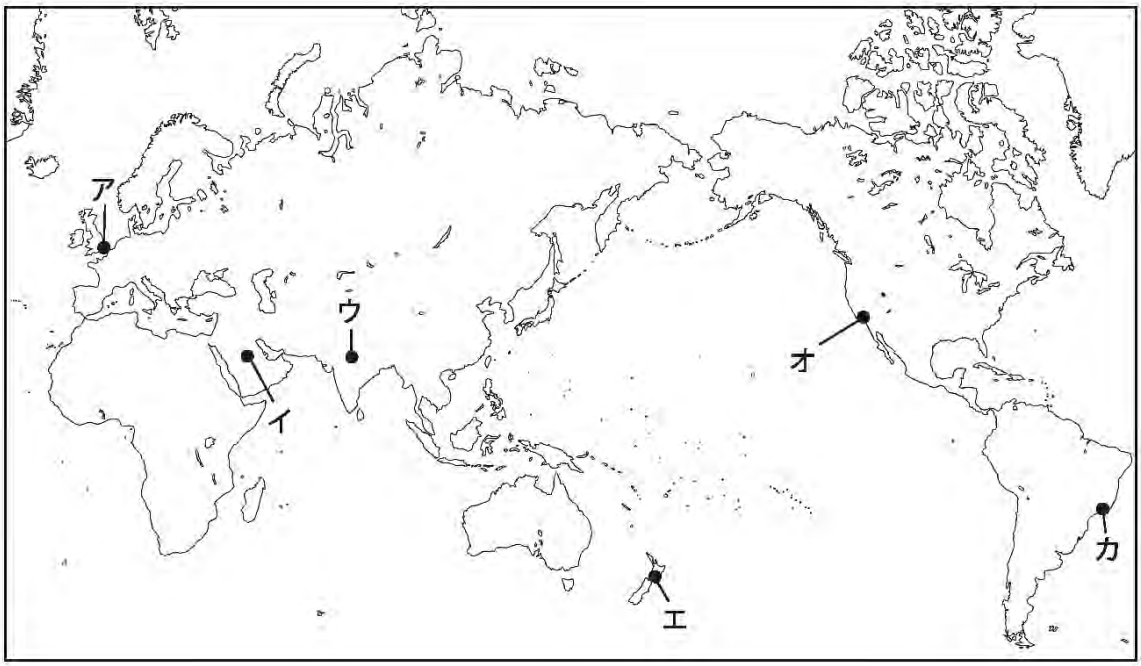

問23　次の各文は，古代のギリシアとローマの政治について述べたものである。各文の下線部ａ～ｇのうち，誤っているものを三つ選び記号で答え，それぞれの正しい語句や人名を答えなさい。

紀元前６世紀初め，ａソロンが貴族と平民の対立の調停にのりだし，血統ではなく財産額の大小によって市民の参政権を定めるとともに，負債を帳消しにし，借財を負った市民を奴隷として売ることを禁止した。

紀元前508年に，アテネの指導者となったｂクレイステネスは，血縁にもとづく旧来の４部族制を，地縁共同体である区（デーモス）にもとづく10部族制に改める改革をおこない，民主政の基礎を築いた。また，僭主の出現を防ぐためにｃ科挙の制度がつくられた。

成年男性市民の全体集会であるｄ民会が多数決で国家の政策を決定し，将軍など一部を除き，一般市民から抽選された役人が行政を担当するなど，紀元前５世紀半ば頃に，将軍ｅカエサルの指導のもとで民主政が実現された。

紀元前367年に，リキニウス・セクスティウス法により執政官職が平民にも開放されるようになった。紀元前287年には，ｆホルテンシウス法により，平民会の決議が元老院の許可なしに全ローマ人の国法となることが定められ，平民の権利が尊重されるようになった。

紀元前27年に，元老院からｇツァーリの称号を贈られたオクタウィアヌスは，元老院など共和政の伝統を尊重し，市民のなかの第一人者（プリンケプス）と自称したが，事実上はほとんど全ての要職を兼任して，全政治権力を自分のものとした。

問24　次の《資料Ⅰ》,《資料Ⅱ》は，のぞみさんが租税について調べて作成したものである。《資料Ⅰ》,《資料Ⅱ》をみて，⑴，⑵，⑶の各問いに答えなさい。

《資料Ⅰ》主な租税の種類

		（　ア　）	（　イ　）
（　ウ　）		所得税 法人税 相続税 贈与税	消費税 酒税 揮発油税 関税 たばこ税
（　エ　）	（都）道府県税	（都）道府県民税 事業税 自動車税	地方消費税 （都）道府県たばこ税 ゴルフ場利用税
	市（区）町村税	市（区）町村民税 固定資産税 軽自動車税	市（区）町村たばこ税 入湯税

納税者と負担者が一致する（　ア　）と，納税者と負担者が異なる（　イ　）に分けられる。また，納付先による区分として，（　ウ　）と（　エ　）がある。

《資料Ⅱ》租税の基本原則

公平の原則	（　a　）の原則	簡素の原則
（　A　）負担を求める「水平的公平」と，（　B　）負担を求める「垂直的公平」がある。	税制が家計や企業の経済活動における選択に影響を与えないようにする。	税制の仕組みを簡素にし，納税者が理解しやすいものにする。

⑴ 《資料Ⅰ》中の（　ア　）～（　エ　）に当てはまる語句を，（　ア　），（　イ　），（　エ　）は漢字３文字で，（　ウ　）は漢字２文字で答えなさい。ただし，同じ記号には同じ語句が入る。

⑵ 《資料Ⅱ》中の（　a　）に当てはまる語句を答えなさい。

⑶ 《資料Ⅱ》中の（　A　），（　B　）に当てはまる内容を，それぞれ「所得」の語句を使って書きなさい。

解答用紙（記述用）

社　会	2の1

（令和８年度）

受験番号	氏　　名
第　　番	

問21

	語句
(1)	a
	b
(2)	c
	d
	e

問22

記号	

問23

記号	語句や人名

解答用紙（記述用）

社　会	2の2

（令和８年度）

受験番号	氏　　名
第　　番	

問24

(1)	ア
	イ
	ウ
	エ
(2)	
(3)	A
	B

令和８年度福岡県公立学校教員採用候補者選考試験　解答及び配点

教科・科目：　中学校社会科

	解　答	配　点		解　答	配　点
問１	③	5	問21	記述	15
問２	⑤	5	問22	記述	5
問３	④	5	問23	記述	15
問４	①	5	問24	記述	15
問５	⑤	5			
問６	⑤	5			
問７	④	5			
問８	⑤	5			
問９	③	5			
問10	⑤	5			
問11	②	5			
問12	②	5			
問13	③	5			
問14	①	5			
問15	③	5			
問16	③	5			
問17	②	5			
問18	⑤	5			
問19	②	5			
問20	⑤	5			

解答用紙（記述用）

社　会	２の１

（令和８年度）

受験番号	氏　名
第　　番	

問 21

		語句	
（１）	a	分布	3
	b	相互依存	3
（２）	c	合意	3
	d	個人の尊厳	3
	e	契約	3

問 22

記号	オ	5

問 23

記号	語句や人名		
c	陶片追放（オストラキスモス）	両解	5
e	ペリクレス	両解	5
g	アウグストゥス（尊厳者）	両解	5

解答用紙（記述用）

社　会	２の２

（令和８年度）

受験番号	氏　名
第　　番	

問 24

（１）	ア　直接税　【漢字３文字】	1
	イ　間接税　【漢字３文字】	1
	ウ　国税　【漢字２文字】	1
	エ　地方税　【漢字３文字】	1
（２）	中立	3
（３）	A　同程度の所得を得ている人には同程度の	4
	B　所得の大きい人により大きい	4

令和８年度

福岡県公立学校教員

採用候補者選考試験問題

高等学校　地理歴史

1　高等学校地理歴史の共通問題は下記のとおりです。受験者全員が解答してください。

　　択一問題　　問１から問10まで

2　高等学校地理歴史の専門問題は下記のとおりです。高等学校地理歴史（歴史）志願者は歴史の問題を，高等学校地理歴史（地理）志願者は地理の問題を選択してください。

（１）歴史

　　択一問題　　問11から問23まで

　　記述問題　　問24から問25まで

（２）地理

　　択一問題　　問26から問38まで

　　記述問題　　問39から問40まで

3　択一問題は，全て「ＯＣＲ解答用紙」に解答してください。

4　記述問題は，全て「解答用紙（記述用）」に解答してください。

※ 問１ ～ 問10 の解答は，全て選択肢から一つ選び，「ＯＣＲ解答用紙」にマークしなさい。

地理歴史（共通）問題

問１　次の文は，高等学校学習指導要領（平成30年３月告示）「地理歴史」の科目「地理総合」の「内容」の一部である。文中のア～ウの空欄に当てはまる語句の正しい組合せを選びなさい。ただし，同じ記号には同じ語句が入る。

> 我が国をはじめ世界で見られる自然災害や生徒の生活圏で見られる自然災害を基に，地域の（　ア　）の特色と自然災害への（　イ　）や対応との関わりとともに，自然災害の規模や頻度，地域性を踏まえた（　イ　）や対応の（　ウ　）などについて理解すること。

	ア	イ	ウ
①	自然環境	備　え	緊急性
②	気象条件	認　識	重要性
③	自然環境	備　え	重要性
④	気象条件	備　え	緊急性
⑤	自然環境	認　識	緊急性

問２　次の文は，高等学校学習指導要領（平成30年３月告示）「地理歴史」の科目「歴史総合」の「内容の取扱い」の一部である。文中のア～ウの空欄に当てはまる語句の正しい組合せを選びなさい。

> この科目では，中学校までの学習との連続性に留意して（　ア　）ことにより，生徒が興味・関心をもって近現代の歴史を学習できるよう指導を工夫すること。その際，近現代の歴史の変化を（　イ　）し，考察，表現できるようにすることに指導の重点を置き，（　ウ　）のみの理解にとどまることのないよう留意すること。

	ア	イ	ウ
①	課題を追究する	大観して理解	歴史の展開
②	諸事象を取り上げる	通観する問いを設定	個別の事象
③	課題を追究する	大観して理解	個別の事象
④	諸事象を取り上げる	大観して理解	個別の事象
⑤	課題を追究する	通観する問いを設定	歴史の展開

問３　次の文は，高等学校学習指導要領（平成30年３月告示）「地理歴史」の科目「日本史探究」の「内容の取扱い」の一部である。文中のア～ウの空欄に当てはまる語句の正しい組合せを選びなさい。

> 地域社会の歴史と文化について扱うようにするとともに，（　ア　）が地域社会の向上と文化の（　イ　）や発展に努力したことを（　ウ　）させ，それらを尊重する態度を育てるようにすること。

	ア	イ	ウ
①	祖　先	変　容	具体的に理解
②	社会や集団	創　造	構造的に整理
③	社会や集団	変　容	構造的に整理
④	祖　先	創　造	具体的に理解
⑤	社会や集団	創　造	具体的に理解

問４　次の文は，高等学校学習指導要領（平成30年３月告示）「地理歴史」の科目「世界史探究」の「内容の取扱い」の一部である。文中のア～ウの空欄に当てはまる語句の正しい組合せを選びなさい。

> 年表や地図，その他の資料を（　ア　）し，文化遺産，（　イ　）やその他の資料館などの施設を調査・見学するなど，具体的に学ぶよう指導を工夫すること。その際，歴史に関わる諸資料を整理・保存することの意味や意義に気付くようにすること。また，科目の内容に関係する（　ウ　）などとの円滑な連携・協働を図り，社会との関わりを意識した指導を工夫すること。

	ア	イ	ウ
①	積極的に活用	公文書館	専門家や関係諸機関
②	多面的・多角的に考察	博物館	学校図書館や地域の公共施設
③	積極的に活用	博物館	専門家や関係諸機関
④	積極的に活用	公文書館	学校図書館や地域の公共施設
⑤	多面的・多角的に考察	公文書館	専門家や関係諸機関

問５　江戸時代末期の開国前後の情勢について述べた次の各文のうち，正しいものを選びなさい。

①　1853年６月にアメリカのペリーが黒船４隻を率いて浦賀沖に現れ，フィルモア大統領の国書を提出して日本に開国を求めた。ついで７月には，ロシアの使節ラクスマンも根室に来航して，開国と国境の画定を要求した。

②　1854年の日米和親条約では，下田・箱館の２港を開いて領事の駐在を認めることやアメリカに一方的な最恵国待遇を与えることを取り決めた。幕府はついで，オランダ・ロシア・イギリス・フランスとも日米和親条約と類似の内容の和親条約を結んだ。

③　将軍継嗣問題に絡んで，幕政参画を目指す越前藩主松平慶永や薩摩藩主島津斉彬らは，水戸藩主徳川斉昭の子で一橋家を継いだ徳川慶喜を推し，将軍家定と血統の近い幼年の紀伊藩主徳川慶福を推して現体制を維持しようとする譜代大名らの南紀派と対立した。

④　1863年，尊王攘夷の立場をとる長州藩は関門海峡を通過する外国船を砲撃したが，翌年その報復として，イギリス・フランス・オランダ・ロシアの四国連合艦隊による下関砲台への攻撃を受けたため，藩内の攘夷派が失脚し開国派が主導権を握った。

問６　1940年代以前の昭和時代の経済について述べた次の各文のうち，正しいものを選びなさい。

①　1927年３月，衆議院での大蔵大臣の失言で銀行の危機的な経営状況が明らかになり，全国の銀行に預金者が殺到して銀行は営業を停止する事態となった。田中義一内閣は台湾銀行救済の緊急勅令を衆議院に否決され，その責任をとって退陣した。

②　浜口雄幸内閣は経済立直しのため，1930年１月に金解禁を実施した。しかし，折からの世界恐慌で輸出は大幅に減少し，都市には失業者があふれた。米の販売不振や生糸などの輸出減少で農家経営も苦しくなり，日本全体が深刻な不況となった。

③　満洲事変で中国から巨額の賠償金を得た日本は，これをもとに軍備拡張を推進するとともに，金融・貿易の制度面の整備を進めた。さらに，若槻礼次郎内閣は欧米にならって貨幣法を制定し，貨幣価値の安定と貿易の振興を図った。

④　日中戦争が始まると，第１次近衛文麿内閣は巨額の軍事予算を編成し，経済統制を行った。その結果，世界的な船舶不足を背景に船成金が次々生まれ，日本はイギリス・アメリカにつぐ世界第３位の海運国となった。

問７　世界恐慌とファシズムの台頭について述べた次の各文のうち，正しいものを選びなさい。

①　アメリカ合衆国のフランクリン＝ローズヴェルト大統領は，自由放任主義的な経済政策を打ち出し，農業調整法や全国産業復興法を制定した。

②　イギリスは金本位制を停止し，イギリス連邦内の関税を下げて連邦外の国に対して高関税をかける経済ブロックを形成した。

③　イタリアのムッソリーニは，ローマ進軍によって政権を掌握して一党独裁体制を樹立し，人民戦線戦術を展開した。

④　ナチ党を率いるヒトラーは，ヴェルサイユ体制の打破を唱えて支持を拡大し，政権獲得後は共産党と連携して全権委任法を制定した。

問８　冷戦の終結とソヴィエト連邦の解体について述べた次の各文のうち，**誤っているもの**を選びなさい。

①　ソ連共産党書記長のゴルバチョフとアメリカ合衆国大統領のブッシュは，地中海のマルタ島で会談し，冷戦の終結を宣言した。

②　1980年代のソ連では，ペレストロイカやグラスノスチなどによって経済の立て直しを図るとともに，中距離核戦力（INF）全廃条約を締結して核軍縮を実現した。

③　ソ連を構成する15の共和国によって独立国家共同体が結成されることによってソ連は解体し，この影響を受けてベルリンの壁が開放された。

④　ポーランドでは，ワレサが率いる自主管理労働組合「連帯」が議会選挙に勝利して政権をとり，共産党による支配が終わった。

問９　統計地図とその利用について述べた次の各文のうち，**誤っているもの**を選びなさい。

①　ドットマップは，その地点での数量を点の多さで表現し，分布状況や量を視覚的にとらえやすいという特徴がある。

②　階級区分図は，絶対分布図の一つで，人口密度のように統計地域ごとの比率や，一人当たりのGNIなどの数値が色彩や模様のパターンで表現される。

③　カルトグラムは，統計数値の大小を効果的に示すため，もとの地図を変形して表現したものだが，もとの地図の正しい面積情報を知っていることが前提となる。

④　メッシュマップは，地域を等面積の多数のメッシュ（網目）に区切り，各メッシュを単位として統計数値を地図化したものである。

問10　気候要素と気候因子について述べた次の各文のうち，正しいものを選びなさい。

①　年中決まった方向に吹く風は，恒常風とよばれる。亜熱帯高圧帯からは，熱帯収束帯へと向かう東寄りの偏西風が吹く。

②　気温の分布に影響を与えるものの一つとして，陸地を覆う土や岩石がある。それらに比べ，水の性質上，海に近い所では，気温の年較差が比較的小さい気候になりやすい。

③　冬のモンスーンは，陸地の気圧が下がり，相対的に気圧が上がった海洋から陸地に向かって吹く風である。日本付近では，この風が日本海側の大雪をもたらす。

④　熱帯低気圧は，海面水温が高い低緯度の海上で発生・発達する低気圧であり，一定以上の風速に達すると，大西洋と北東太平洋ではサイクロンと呼ばれる。

※ 問11 ～ 問23 の解答は，全て選択肢から一つ選び，「ＯＣＲ解答用紙」にマークしなさい。
※ 問24 ～ 問25 の解答は，全て「解答用紙（記述用）」に記入しなさい。

地理歴史（歴史）問題

問11　原始・古代の社会について述べた次の各文のうち，正しいものを選びなさい。

①　古墳時代になると，弥生時代には一切みられなかった環濠集落や平地との標高の差が40m以上ある高地性集落が現れ，石製や金属製の武器が出現した。

②　古墳時代前期から中期の初めまでは弥生土器の系譜を引く赤焼きの土師器が用いられたが，５世紀には朝鮮半島から硬質で灰色の須恵器の製作技術が伝えられたため，土師器は日本から姿を消した。

③　８世紀後半から９世紀になると，農民間に貧富の差が拡大し，浮浪・逃亡など様々な手段で負担を逃れようとした。そして，兵役・労役・租税を負担する成人男性を避けて，負担の少ない女性などの登録を増やす，偽籍が目立つようになった。

④　奈良時代，受領は，有力農民である田堵に田地の耕作を請け負わせ，税として租と公出挙の利稲とを合わせた官物と，庸・調・雑徭に由来し本来は力役である臨時雑役を課すようになった。

問12　中世の政治について述べた次の各文の正誤を判断し，その組合せが正しいものを選びなさい。

ア　承久の乱後，鎌倉幕府は後鳥羽上皇ら３上皇を配流するとともに，後鳥羽上皇の孫仲恭天皇を廃し，後堀河天皇を即位させた。また，京都守護にかわり新たに六波羅探題をおいて，朝廷を監視し，京都の内外の警備及び西国の統轄に当たらせた。

イ　弘安の役後，元は日本征服を計画していたので，鎌倉幕府も警戒体制を緩めず，文永の役後から始まった異国警固番役を強化するとともに，博多には北条氏一門を鎮西探題として送り，九州地方の政務や裁判，御家人の指揮に当たらせた。

ウ　後醍醐天皇は摂政・関白を置かず，幕府も院政も否定した。中央には記録所や雑訴決断所などを設置し，諸国には国司と守護を併置した。また，東北・関東地方には，それぞれ陸奥将軍府・鎌倉将軍府をおいて皇子を派遣した。

エ　足利尊氏は鎌倉幕府の基盤であった関東を特に重視し，その子基氏を鎌倉公方として鎌倉府を開かせ，東国の支配を任せた。以後，鎌倉公方は基氏の子孫が受け継ぎ，鎌倉公方を補佐する関東管領は上杉氏が世襲した。

	ア	イ	ウ	エ
①	正	誤	正	正
②	誤	誤	正	誤
③	正	正	誤	誤
④	誤	正	誤	正
⑤	正	誤	誤	正

問13　中世～近代の商業・経済について述べた次の各文のうち，**誤っているもの**を選びなさい。

①　鎌倉時代，現物にかわって貨幣が多く用いられるようになり，中国から輸入された宋銭が利用された。また，荘園の一部では年貢の銭納も行われた。

②　室町時代，遠隔地商人の間では割符が盛んに利用されるようになり，多量の物資が運ばれる京都への輸送路では，馬借・車借とよばれる運送業者も活躍した。

③　17世紀末に全国市場が確立し，海運が活発になると，江戸の十組問屋や大坂の二十四組問屋のように，多様な職種からなる問屋仲間の連合組織がつくられた。

④　江戸時代，金座では小判などの秤量貨幣が鋳造され，銀座では丁銀や豆板銀などの計数貨幣が鋳造された。さらに銭座では永楽通宝や洪武通宝を大量に鋳造した。

⑤　明治時代，殖産興業政策が進められる過程で，三井・岩崎などの民間の事業家は，政府から特権を与えられ，金融・貿易・海運などの分野で独占的な利益を上げ，政商とよばれた。

問14　古代～近代の彫刻について述べた次の各文のうち，**誤っているもの**を選びなさい。

①　白鳳期の代表作の興福寺仏頭は，もと山田寺にあった薬師如来像で，蘇我倉山田石川麻呂の霊をとむらうため685年につくられたが，火災にあい頭部だけが残った。

②　天平期の代表的な仏像としては，東大寺法華堂に伝わる乾漆像の不空羂索観音像，塑像の日光・月光菩薩像や興福寺に伝わる乾漆像の阿修羅像などが知られている。

③　平安時代中期，平等院鳳凰堂阿弥陀如来像をつくった仏師定朝は，従来の一木造にかわる寄木造の手法を完成し，末法思想を背景とする仏像の大量需要にこたえた。

④　鎌倉時代，禅僧の運慶・湛慶父子や快慶らが仏像や肖像彫刻をつくり出した。運慶・快慶らが制作した東大寺南大門金剛力士像は禅宗様の代表的作品である。

⑤　明治期には，「老猿」の作者高村光雲の伝統的な木彫と，「女」の作者でありアメリカ・フランスで学んだ荻原守衛らの西洋流の彫塑とが対立・競合しながら発達した。

問15　明治時代の条約改正について述べた次の各文の正誤を判断し，その組合せが正しいものを選びなさい。

ア　1871年，右大臣岩倉具視を大使とする使節団がアメリカ・ヨーロッパに派遣され，まずアメリカと交渉したが目的を達成することができず，1876年から外務卿木戸孝允がアメリカと交渉して関税自主権回復に成功したが，イギリスの反対で無効となった。

イ　井上馨外務大臣は欧米列国に領事裁判権を撤廃する改正案を提示し，了承された。しかし，1886年にフェートン号事件がおこり不平等条約に対する世論の反感が高まり，極端な欧化主義に対する反感と相まって，井上は交渉を中止して辞任した。

ウ　大隈重信外務大臣は条約改正の条件として大審院への外国人判事の任用を認めていたことがわかると，政府内外に強い反対論がおこった。1889年に大隈が対外硬派の団体玄洋社の一青年により負傷させられた事件を機に，改正交渉は再び中断した。

エ　条約改正の最大の難関であったイギリスが東アジア進出を図るロシアを警戒し，日本に対して好意的となり，条約改正に応じる態度を示した。そこで青木周蔵外務大臣が改正交渉を開始したが，国内で秩父事件が発生したため引責辞任した。

	ア	イ	ウ	エ
①	正	誤	正	正
②	誤	誤	正	誤
③	正	誤	誤	誤
④	誤	正	誤	正
⑤	正	正	誤	正

問16　次の各文は，1940年代以降の昭和時代に制定された法律または締結された条約等の一部である。次のア～オについて，年代が古い順に正しく並べたものを選びなさい。

ア　第十三条　すべて国民は，個人として尊重される。生命，自由及び幸福追求に対する国民の権利については，公共の福祉に反しない限り，立法その他の国政の上で，最大の尊重を必要とする。

イ　第六条（a）　連合国のすべての占領軍は，この条約の効力発生の後なるべくすみやかに……日本国から撤退しなければならない。但し，この規定は……協定に基く……外国軍隊の日本国の領域における駐とん又は駐留を妨げるものではない。

ウ　第三条　大韓民国政府は，国際連合総会決議第百九十五号（Ⅲ）に明らかに示されているとおりの朝鮮にある唯一の合法的な政府であることが確認される。

エ　十三　吾等ハ日本国政府ガ直ニ全日本国軍隊ノ無条件降伏ヲ宣言シ，且右行動ニ於ケル同政府ノ誠意ニ付適当且充分ナル保障ヲ提供センコトヲ同政府ニ対シ要求ス。右以外ノ日本国ノ選択ハ迅速且完全ナル壊滅アルノミトス。

オ　日中両国は，一衣帯水の間にある隣国であり，長い伝統的友好の歴史を有する。両国国民は，両国間にこれまで存在していた不正常な状態に終止符を打つことを切望している。戦争状態の終結と日中国交の正常化という両国国民の願望の実現は，両国関係の歴史に新たな一頁を開くこととなろう。

①	イ → ア → エ → オ → ウ
②	イ → エ → オ → ア → ウ
③	エ → イ → ア → ウ → オ
④	エ → ア → オ → イ → ウ
⑤	エ → ア → イ → ウ → オ

問17　帝政時代のローマについて述べた次の各文のうち，正しいものを選びなさい。

① 相つぐ対外戦争により中小農民が没落すると，騎士層などの富裕者は荒廃した土地を買い集め，戦争捕虜を奴隷として使役するラティフンディアを拡大させた。

② トラヤヌス帝のもとで帝国領は最大となり，のちにロンドン・パリ・ベルリンなどの近代都市となるローマ風の都市が建設された。

③ ローマ市民権は属州にも拡大されるようになり，ディオクレティアヌス帝のもとで帝国内の全自由民に市民権が付与されることとなった。

④ 軍人皇帝時代には属州における反乱に加えて，北方のゲルマン人や東方のササン朝なども国境に侵入し，ローマ帝国は危機に陥った。

⑤ ミラノ勅令により帝国全土でキリスト教が公認されると，ニケーア公会議が開催され，のちの三位一体説となるアリウス派が正統教義とされた。

問18　宋代の中国の経済や社会について述べた次の各文のうち，正しいものを選びなさい。

①　相つぐ対外戦争による財政難に対応するため，塩・鉄・酒などを専売品とし，均輸・平準を実施して物資の流通と物価の安定を図った。

②　文人官僚の出身母体となった新興の地主階層である形勢戸は，没落した小農民を佃戸として農地を耕作させ，地域社会を指導する士大夫へと成長していった。

③　都を中心に国際的な文化が花開き，仏教や道教の寺院とともに，景教（ネストリウス派キリスト教）や祆教（ゾロアスター教）・マニ教の寺院などが造営された。

④　社会の安定を背景に人口が急増し，トウモロコシやサツマイモなどのアメリカ大陸原産の輸入作物が山間部に広まった。

⑤　国際商業の活発化により，長江下流域では綿織物や生糸などの家内制手工業が発展し，江西省の景徳鎮では陶磁器生産が盛んとなった。

問19　古代からムガル帝国による統治までのインドの歴史について述べた次の各文の正誤を判断し，その組合せが正しいものを選びなさい。

ア　前1000年頃，パンジャーブ地方に定住していたアーリヤ人はガンジス川流域へと移動し，鉄器の使用を開始するとともに稲の栽培を行うようになった。

イ　アレクサンドロス大王によるインダス川流域への侵入による混乱のなかから，アショーカ王がパータリプトラを都としてマウリヤ朝を建国した。

ウ　ハルシャ王が建国したヴァルダナ朝期のインドを訪れた唐僧の玄奘は，アジャンター石窟寺院で仏教教学を学び，帰国後に『大唐西域記』を著した。

エ　アフガニスタンを拠点としてインド侵攻を繰り返していたゴール朝の将軍アイバクは，デリーを都として奴隷王朝を創始した。

オ　ムガル帝国ではペルシア語が公用語とされる一方で，ペルシア語と地方語が融合したウルドゥー語も用いられるようになった。

	ア	イ	ウ	エ	オ
①	正	正	正	誤	誤
②	正	正	誤	正	正
③	正	誤	誤	正	正
④	誤	誤	正	誤	正
⑤	誤	正	誤	誤	誤

問20　17・18世紀のヨーロッパの文化人と関連する歴史事象について述べた次の各文のうち，正しいものを選びなさい。

① 『愚神礼賛』で教会を批判したエラスムスは，ドイツで宗教改革を開始したルターには同調せず，各派の和解を主張した。

② ロックが『統治二論（市民政府二論）』のなかで正当性を唱えた抵抗権は，ジェファソンらが起草したアメリカ合衆国の独立宣言に影響を与えた。

③ 「国際法の父」と呼ばれたグロティウスは，航海法を制定して海洋進出を果たしたオランダを擁護するために『海洋自由論』を著した。

④ 啓蒙思想家のルソーが『法の精神』のなかで主張した人民主権は，フランス革命における第三身分の自立を促した。

⑤ 『哲学書簡』で知られる啓蒙思想家のヴォルテールは，「君主は国家第一の下僕」と自称したプロイセンのヴィルヘルム２世によって宮廷に招かれた。

問21　19世紀のイギリスの展開について述べた次のア～オについて，年代が古い順に正しく並べたものを選びなさい。

ア　ホイッグ党内閣により第１回選挙法改正が実施され，有権者が極端に少ない腐敗選挙区が廃止されるとともに，産業革命で成長したブルジョワに選挙権が拡大した。

イ　マルクスが主張した労働者階級の国際的な連帯のモデルとして，各国の社会主義者はロンドンで第１インターナショナルを結成した。

ウ　保守党のディズレーリ首相は，スエズ運河会社の株を買収してその経営権を握り，インドルートを確保した。

エ　マンチェスターの実業家であったコブデンとブライトの運動により，外国産穀物の輸入を制限した穀物法の廃止が実現した。

オ　旧オランダ領のセイロン島とケープ植民地を獲得し，またマルタ島の領有を承認させ，植民地帝国拡大への基礎を固めた。

①	ア	→	イ	→	ウ	→	オ	→	エ
②	ア	→	エ	→	オ	→	ウ	→	イ
③	オ	→	エ	→	ア	→	ウ	→	イ
④	オ	→	ア	→	エ	→	イ	→	ウ
⑤	オ	→	ア	→	ウ	→	イ	→	エ

問22　第一次世界大戦後のアジア・アフリカ地域について述べた次の各文のうち，正しいものを選びなさい。

①　旧オスマン帝国領はフセイン・マクマホン協定にもとづいて，イギリス・フランスの委任統治領として分割された。

②　大戦中にイギリスの保護国となったエジプトでは，タキン党を中心に独立運動が展開され，立憲君主制のエジプト王国が成立した。

③　アラビア半島では，預言者ムハンマドへの回帰を唱えるワッハーブ派の勢力が豪族サウード家の支援を受けて拡大し，ワッハーブ王国が建国された。

④　インドネシアでは，国民会議派内のスカルノら急進派によってプールナ＝スワラージが決議され，オランダに対する民族運動が高揚した。

⑤　ベトナムでは，ホー＝チ＝ミンを指導者としてベトナム青年革命同志会が結成され，これを母体としてベトナム共産党（インドシナ共産党）が成立した。

問23　第二次世界大戦後のアメリカ合衆国大統領の事績について述べた次の各文のうち，正しいものを選びなさい。

①　トルーマン大統領は，ソ連がバルト海からアドリア海まで「鉄のカーテン」をおろしていると批判し，「封じ込め」政策を宣言した。

②　ケネディ大統領は，キューバ危機を受けて核兵器の制限に取り組みはじめ，1963年にイギリス・ソ連とともに核拡散防止条約を締結した。

③　ジョンソン大統領は，「ニューフロンティア政策」を掲げて国内改革を推進し，人種差別を禁止する公民権法を成立させた。

④　ニクソン大統領は，ソ連や東ヨーロッパ諸国との関係改善を図る「東方外交」を展開するとともに，中国を訪問して国交の正常化に努めた。

⑤　レーガン大統領は，「強いアメリカ」を提唱して軍備を拡張する一方で，市場経済を優先して競争原理を重んじる新自由主義を推進した。

問24　室町幕府が発布した，手数料を納入することを条件にした徳政令について，徳政令及び手数料の名称と次に挙げる語句を使って，75字以内（句読点を含む）で説明しなさい。

債務額・債権額

問25　アッバース家は，ウマイヤ朝の社会内部の対立に乗じてホラーサーンで反乱を起こし，ウマイヤ朝を滅ぼして王朝を創始した。ウマイヤ朝の統治に対して不満を抱いていた２つの勢力について，次に挙げる２つの語句を使って，70字以内（句読点を含む）で説明しなさい。

アリー	アラブ人

※ 問26 ～ 問38 の解答は，全て選択肢から一つ選び，「ＯＣＲ解答用紙」にマークしなさい。
※ 問39 ～ 問40 の解答は，全て「解答用紙（記述用）」に記入しなさい。

地理歴史（地理）問題

問26　さまざまな地形や気候について述べた次の各文のうち，**誤っているもの**を選びなさい。

①　プレートが広がる境界であり，海嶺の一部が地表にあらわれたアイスランドでは，広がる境界に沿って線状噴火をおこす火山がみられる。

②　海洋プレートがほかの大陸プレートの下へ斜めに沈み込んでいる境界では，海底は急に深くなって海溝となり，海溝と平行に弧状列島ができる。

③　ケッペンの気候区分では，温帯（C）は最寒月平均気温が－３℃以上18℃未満で定義される。地中海性気候（Cs）は，地中海沿岸だけではなく，北アメリカ大陸においてもみられる。

④　プレート運動の影響で，プレートの境の地域では，地震や火山活動が活発な地域が多くみられる。アフリカ大陸は，大半が安定陸塊のため，地震はみられない。

問27　世界の交通について述べた次の各文のうち，**誤っているもの**を選びなさい。

①　地域の中心となる拠点空港で周辺に航空路線を放射状にのばしている空港をハブ空港という。ドイツのフランクフルト，アラブ首長国連邦のドバイなどが該当し，国内外の航空路線が集中している。

②　内陸水路を航行する河川交通は，ヨーロッパのライン川やエルベ川など運河網が整備され，貨物輸送の輸送路となっている。海上交通では，コンテナ船が普及し，シンガポールや上海は，貨物取扱量の多い港湾都市として知られる。

③　先進国でも国によって輸送手段の内訳には違いがある。先進国では旅客・貨物輸送ともに航空機が中心であるが，日本はアメリカ合衆国と比べて，旅客輸送に占める鉄道の割合が高く，貨物輸送では船舶の割合が高くなっている。

④　自動車（ガソリン車）は，輸送量あたりの二酸化炭素の排出が多いことから，近年では，環境への負荷の少ない鉄道や船舶による輸送に転換するモーダルシフトが進められている。

問28　地球環境問題について述べた次の各文のうち，正しいものを選びなさい。

①　地球温暖化の主な原因は，人間の経済活動による温室効果ガスの増加と考えられており，なかでも2021年の二酸化炭素排出量が最も多いのはアメリカ合衆国，次いで中国である。

②　砂漠化が進む中国内陸部やオーストラリア内陸部，北アメリカのグレートプレーンズなどでは，過剰な灌漑による土壌の塩性化により，耕地が放棄されることもある。

③　大気汚染は，偏西風や季節風にのって発生源以外の国にも広がるため，長距離越境大気汚染条約には中国を中心とするアジア諸国が批准している。

④　1992年にストックホルムで開催された国連環境開発会議（地球サミット）の後，持続可能な開発や生物多様性という言葉が広がっていった。

⑤　脱炭素社会に向けて，日本を含む多くの国が2030年までに温室効果ガスの排出量を実質ゼロにするカーボンニュートラルの実現を目指している。

問29　日本の農業の現状と課題について述べた次の各文のうち，**誤っているもの**を選びなさい。

①　農業体験や直売所の訪問などを含むアグリツーリズムや，景観や文化の保全といった農業の多面的機能を生かした農村地域の振興が行われている。

②　日本で育成された品種が海外に流出し，それが現地で生産されるといった問題への対処が必要となっている。

③　地域の産業としての農業の魅力を高めるため，生産だけでなく加工や流通・販売にも農家や地域の人々が関わり，所得や雇用の増大を目指す６次産業化が盛んである。

④　日本では，狭い耕地に肥料や農薬を大量に投下して高収量をあげる集約的な農業を行ってきたため，生産費はかかるが，耕地１haあたりの農業産出額は高い。

⑤　近年では，ICTを活用して作業を省力化・効率化するスマートアグリの技術開発が本格化し，これまで機械化が困難だった露地野菜の栽培でも労働力不足が解消された。

問30　次のグラフは，主な国の農業生産性を示したものである。グラフ中のＡ～Ｃに当てはまる国の組合せが正しいものを選びなさい。

主な国の農業生産性（2020年）

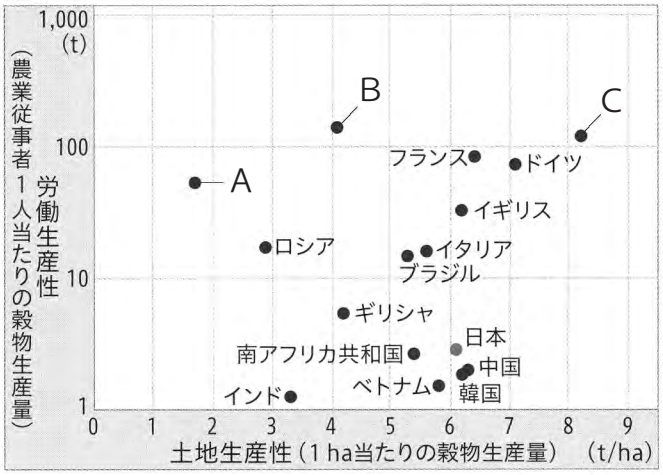

（FAO資料ほか）

	A	B	C
①	カナダ	オーストラリア	アメリカ合衆国
②	カナダ	アメリカ合衆国	オーストラリア
③	アメリカ合衆国	カナダ	オーストラリア
④	オーストラリア	カナダ	アメリカ合衆国
⑤	オーストラリア	アメリカ合衆国	カナダ

問31　エネルギー資源と再生可能エネルギーについて述べた次の各文のうち，**誤っているもの**を選びなさい。

①　外国資本の支配に不満をもっていた産油国では，資源ナショナリズムの動きが高まり，1960年に石油輸出国機構（OPEC）を結成した。

②　石油輸出国機構（OPEC）は，1973年のイラン＝イスラーム革命をきっかけに原油の価格や産油量の決定権を獲得し，石油危機を引きおこした。

③　2000年代に入り世界的なエネルギー需要の増加に伴って，石油メジャーはシェールガスやシェールオイル，オイルサンドなどの新たな化石燃料の開発を進めている。

④　発電所で電力を生み出した際に発生する廃熱を，給湯や冷暖房などに利用するコジェネレーションシステムの開発と利用が各地で進められている。

⑤　バイオ燃料は，アメリカ合衆国ではとうもろこし，ブラジルではさとうきびを主な原料としており，アメリカ合衆国とブラジルが世界の生産量のほとんどを占めている。

問32　次の表は，主な国の機械類の輸出額を示したものである。表中のア～エに当てはまる国の組合せが正しいものを選びなさい。

（百万ドル）

2023年	一般機械	電気機械	自動車	航空機	船　舶
ア	328 168	1 042 297	197 862	5 214	31 873
イ	264 018	207 240	283 821	34 048	5 673
ウ	198 595	245 083	147 120	11 339	3 168
エ	128 509	106 438	155 721	2 110	9 716
韓　国 (※)	59 860	192 879	74 278	1 653	17 138

(※) 2022年

（データブック オブ・ザ・ワールド　2025年版による）

	ア	イ	ウ	エ
①	アメリカ合衆国	ドイツ	中　国	日　本
②	アメリカ合衆国	日　本	中　国	ドイツ
③	中　国	アメリカ合衆国	ドイツ	日　本
④	中　国	ドイツ	アメリカ合衆国	日　本
⑤	中　国	アメリカ合衆国	日　本	ドイツ

問33　経済発展と第３次産業について述べた次の各文のうち，**誤っているもの**を選びなさい。

①　経済が発展すると，第１次産業から第２次産業，第３次産業へと主力となる産業が変化する産業構造の高度化が進み，都市人口比率の上昇をもたらす。

②　日本では，1950年代以降の工業化の進展に伴い第１次産業人口が減少し，1970年代には石油危機を契機に第２次産業人口も減少した。

③　第１次産業や第２次産業においても，情報通信技術（ICT）を導入し，付加価値を高める工夫をするようになってきている。

④　電子商取引は，最初は企業間の取り引きが中心であったが，インターネットの普及に伴い，消費者向けのオンラインショッピングが急成長した。

⑤　小売業において，食料品や日用品などの買い回り品を求める消費者を顧客とする小規模なスーパーマーケットなどは商圏が比較的小さく，分散して立地する。

問34　次のグラフは，主な国の出生率と死亡率を示したものである。各グラフのア～エに当てはまる国の組合せが正しいものを選びなさい。

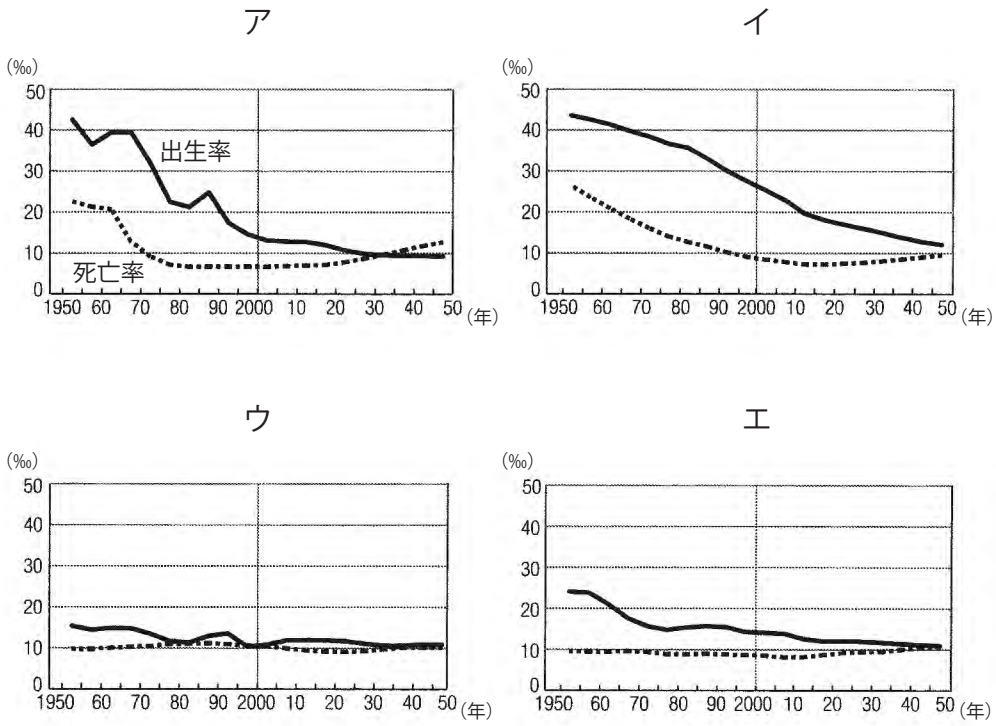

（データブック オブ・ザ・ワールド　2025年版による）

	ア	イ	ウ	エ
①	中　国	インド	スウェーデン	アメリカ合衆国
②	中　国	アメリカ合衆国	スウェーデン	インド
③	インド	中　国	アメリカ合衆国	スウェーデン
④	インド	アメリカ合衆国	中　国	スウェーデン
⑤	インド	中　国	スウェーデン	アメリカ合衆国

問35　世界の民族と宗教について述べた次の各文のうち，**誤っているもの**を選びなさい。

①　西アジアのトルコやイラン，イラク，シリアにまたがる山岳地域はクルディスタンとよばれ，そこで暮らすクルド人は自治や独立の運動をおこし各国政府から激しく弾圧された。

②　カフカス地方は，古くから民族移動や交易が盛んで，原油などの資源の産出地であり軍事的にも重要な地域であるため，民族間の対立と紛争が絶えない地域となっている。

③　中国のチベット族はイスラム教を信仰する人が多く，チベット自治区として民族自治区が認められており，中国からの独立を求める反政府運動がみられる。

④　ユダヤ人のシオニズム運動により，1948年にユダヤ人はイスラエルの建国を宣言し，パレスチナにもともと暮らしていたアラブ人はパレスチナ難民となった。

⑤　1991年のソ連解体の動きの中でチェチェン共和国の独立が宣言され，ムスリムが多くを占めるチェチェン民族がロシアからの独立を求めて戦った。

問36　オセアニアについて述べた次の各文のうち，正しいものを選びなさい。

①　オーストラリアの内陸部の大半は乾燥帯であるが，グレートディヴァイディング山脈よりも東側には地中海性気候が分布し，南西部には西岸海洋性気候がみられる。

②　オーストラリア大陸のグレートアーテジアン盆地では，被圧地下水を掘り抜き井戸でくみ上げ，その用途は主に小麦栽培に利用されてきた。

③　オーストラリアの白豪主義は，1970年代前半に撤廃され多文化主義を推進するようになり，先住民のマオリは独自の文化が尊重されるようになった。

④　ニュージーランドは牧畜大国で，牧羊は南北両島で盛んに行われており，西岸海洋性の湿潤な気候に適した羊毛用のメリノ種が中心である。

⑤　ニュージーランドはアジア諸国との結びつきを強めており，近年は輸出入ともに中国が最大の貿易相手国であるが，人の往来はオーストラリアが最大である。

問37　西アジアと中央アジアについて述べた次の各文のうち，**誤っているもの**を選びなさい。

①　西アジアは，アラビア半島をのせたアラビアプレートが，その北にあるユーラシアプレートに衝突して衝突帯を形成し，高原や険しい山脈をつくり地震が多い。

②　中央アジアは，大部分が安定地域に属しており，カザフステップなどの平原が広がる。カスピ海やアラル海などの塩湖が分布し，アラル海は湖の縮小が進んでいる。

③　イランではカナート，アフガニスタンではカレーズとよばれる地下水路を利用して，野菜や果物を栽培するオアシス農業が行われてきた。

④　産油国は1970年代半ば以降，石油収入を増大させたが，1980年代に石油収入が頭打ちになり，石油輸出で得た利益を観光産業などに投入するようになった。

⑤　「アラブの春」は，2011年にシリアにも波及し内戦が発生した。国内の多くの人々が国外に難民として逃れ，隣国のトルコへ逃れた難民が最も多い。

問38　北アフリカとサハラ以南アフリカについて述べた次の各文の正誤を判断し，その組合せが正しいものを選びなさい。

ア　北アフリカ・サハラ以南アフリカの両地域は，そのほとんどが安定地域であり大陸の平均高度は約750mで，台地や高原が多くなっている。

イ　サハラ以南アフリカでは，赤道付近に熱帯林が広がり，赤道から離れるにつれてステップの草原が，南北の回帰線付近には砂漠が分布する。

ウ　1960年代にはアフリカの多くの国が独立し，植民地時代の境界を引き継いだ人為的国境が多く，民族間の対立や内戦を引きおこす原因となった。

エ　ルワンダでは，第一次世界大戦後に少数派のフツ族と多数派のツチ族の対立がみられたが，現在は「アフリカの奇跡」とよばれる復興を遂げている。

オ　サハラ以南アフリカは経済の多角化が進められており，近年では資源確保の目的からインフラ建設における中国の進出が著しく，結びつきが強まりつつある。

	ア	イ	ウ	エ	オ
①	正	誤	正	正	誤
②	正	誤	正	誤	正
③	正	正	誤	誤	誤
④	誤	正	誤	正	正
⑤	誤	正	正	正	誤

問39　都市型水害の要因と特徴について，80字以内（句読点を含む）で説明しなさい。

問40　東南アジアにおける油やしの栽培面積が増加している理由について，パーム油の生産上位２カ国を示し，70字以内（句読点を含む）で説明しなさい。

解答用紙（記述用）

地理歴史（歴　史）	1の1

（令和８年度）

受験番号	氏　　名
第　　番	

問24

10　20

問25

10　20

解答用紙（記述用）

地理歴史（地　理）	1の1

（令和８年度）

受験番号	氏　　名
第　　番	

問39

10　　20

問40

10　　20

令和8年度　福岡県公立学校教員採用候補者選考試験　解答及び配点

教科・科目　　地理歴史

	解　答	配　点		解　答	配　点
問１	③	4	問２６	④	7
問２	④	4	問２７	③	7
問３	④	4	問２８	②	7
問４	③	4	問２９	⑤	7
問５	③	4	問３０	④	6
問６	②	4	問３１	②	7
問７	②	4	問３２	④	6
問８	③	4	問３３	⑤	7
問９	②	4	問３４	①	7
問１０	②	4	問３５	③	6
問１１	③	7	問３６	⑤	6
問１２	①	6	問３７	①	6
問１３	④	6	問３８	②	6
問１４	④	7	問３９	記述	13
問１５	②	7	問４０	記述	12
問１６	⑤	7	問４１		
問１７	④	6	問４２		
問１８	②	6	問４３		
問１９	③	7	問４４		
問２０	②	7	問４５		
問２１	④	7	問４６		
問２２	⑤	6	問４７		
問２３	⑤	6	問４８		
問２４	記述	13	問４９		
問２５	記述	12	問５０		

解答用紙（記述用）

地理歴史 （　　）	

（令和８年度）

受験番号	氏　　名
第　　番	解　答　例

問 24（13 点）

10　　20

分	一	銭	と	い	う	債	務	額	・	債	権	額	の	1	0	分	の	1	又
は	5	分	の	1	の	手	数	料	を	幕	府	に	納	入	す	る	こ	と	を
条	件	に	,	債	務	の	破	棄	又	は	債	権	の	保	護	を	認	め	た
も	の	を	分	一	徳	政	令	と	い	う	。								

問 25（12 点）

10　　20

ア	リ	ー	の	血	統	を	支	持	す	る	シ	ー	ア	派	は	ウ	マ	イ	ヤ
朝	に	よ	る	支	配	に	反	対	し	,	異	民	族	の	イ	ス	ラ	ー	ム
改	宗	者	は	特	権	的	な	ア	ラ	ブ	人	支	配	層	に	対	す	る	不
満	を	持	っ	て	い	た	。												

問 39（13 点）

10　　20

都	市	で	は	,	地	表	面	の	大	部	分	が	ア	ス	フ	ァ	ル	ト	や
コ	ン	ク	リ	ー	ト	で	覆	わ	れ	て	い	る	た	め	,	降	っ	た	雨
が	ほ	と	ん	ど	地	下	に	浸	透	せ	ず	,	河	川	水	位	の	急	激
な	上	昇	,	低	地	や	地	下	街	の	浸	水	が	起	き	る	こ	と	。

問 40（12 点）

10　　20

世	界	的	な	油	脂	の	消	費	拡	大	に	よ	っ	て	,	油	や	し	か
ら	と	れ	る	パ	ー	ム	油	の	需	要	が	増	加	し	た	ため	,	イ	
ン	ド	ネ	シ	ア	や	マ	レ	ー	シ	ア	で	の	油	や	し	の	栽	培	面
積	が	増	加	し	た	。													

令和８年度

福岡県公立学校教員

採用候補者選考試験問題

高等学校　公　民

1　高等学校公民の問題は下記のとおりです。
　　択一問題　　問１から問27まで
　　記述問題　　問28から問30まで

2　択一問題は，全て「ＯＣＲ解答用紙」に解答してください。

3　記述問題は，全て「解答用紙（記述用）」に解答してください。

問１ ～ 問27 の解答は，全て①～⑤から一つ選び，「ＯＣＲ解答用紙」にマークしなさい。

問１　次の文は，「高等学校学習指導要領」（平成30年３月告示）「第２章　各学科に共通する各教科」「第３節　公民」「第１款　目標」の一部である。文中の（　ア　）～（　エ　）の空欄に当てはまる語句の正しい組合せを選びなさい。

> (2)　現代の諸課題について，事実を基に（　ア　）などを活用して多面的・多角的に考察したり，解決に向けて（　イ　）に判断したりする力や，合意形成や（　ウ　）を視野に入れながら構想したことを（　エ　）する力を養う。

	（　ア　）	（　イ　）	（　ウ　）	（　エ　）
①	概念	適切	社会参画	協議
②	理論	公正	思考実験	協議
③	理論	公正	社会参画	協議
④	概念	公正	社会参画	議論
⑤	理論	適切	思考実験	議論

問２　次の文は，「高等学校学習指導要領」（平成30年３月告示）「第２章　各学科に共通する各教科」「第３節　公民」「第２款　各科目」「第２　倫理」「２　内容」「Ａ　現代に生きる自己の課題と人間としての在り方生き方」の一部である。文中の（　ア　）～（　エ　）の空欄に当てはまる語句の正しい組合せを選びなさい。

> (1)　人間としての在り方生き方の自覚
>
> ―中略―
>
> イ　次のような思考力，判断力，表現力等を身に付けること。
>
> (ｱ)　自己の（　ア　）を見つめ直し，自らの（　イ　）を振り返り，他者，集団や社会，（　ウ　）などとの関わりにも着目して自己の課題を捉え，その課題を現代の倫理的課題と結び付けて多面的・多角的に考察し，（　エ　）すること。

	（　ア　）	（　イ　）	（　ウ　）	（　エ　）
①	生き方	体験や悩み	生命や自然	表現
②	在り方	経験や発達	文化や環境	説明
③	在り方	体験や悩み	生命や自然	説明
④	生き方	経験や発達	文化や環境	説明
⑤	在り方	体験や悩み	文化や環境	表現

問３　次の文は，「高等学校学習指導要領」（平成30年３月告示）「第２章　各学科に共通する各教科」「第３節　公民」「第３款　各科目にわたる指導計画の作成と内容の取扱い」の一部である。文中の（　ア　）～（　エ　）の空欄に当てはまる語句の正しい組合せを選びなさい。

> ２　内容の取扱いに当たっては，次の事項に配慮するものとする。
>
> ―中略―
>
> ⑵　諸資料から，社会的事象等に関する様々な情報を（　ア　）に収集し，読み取り，（　イ　）技能を身に付ける学習活動を重視するとともに，具体的な体験を伴う学習の充実を図るようにすること。その際，現代の諸課題を捉え，多面的・多角的に考察，構想するに当たっては，関連する各種の統計，年鑑，白書，（　ウ　），読み物，地図その他の資料の出典などを確認し，その（　エ　）を踏まえつつ適切に活用したり，考察，構想の過程と結果を整理し報告書にまとめ，発表したりするなどの活動を取り入れるようにすること。

	（　ア　）	（　イ　）	（　ウ　）	（　エ　）
①	効果的	整理する	新聞	信頼性
②	主体的	まとめる	辞典	信頼性
③	主体的	整理する	辞典	妥当性
④	主体的	整理する	新聞	妥当性
⑤	効果的	まとめる	新聞	信頼性

問４　次の青年期の特徴に関する記述のうち，**誤っているもの**を選びなさい。

① ハヴィガーストは，青年期の発達課題として，「両親や他のおとなから情緒的に自立すること」，「職業選択のための準備をすること」などをあげている。

② エリクソンは，青年期の発達課題を「アイデンティティ（自我同一性）の確立」とし，このアイデンティティとは「自分らしさ」のことであり，「私は誰なのか」という問いに対する答えに当たると説いた。

③ レヴィンは，自分の将来像がみえないことで，無関心・無感動・無気力に生きる学生特有の状態を「ピーターパン・シンドローム」とよんだ。

④ ホールは，青年期が感情の起伏の激しい時期であるという特徴を捉えて，青年期を「疾風怒濤の時代」とよんだ。

⑤ ルソーは，人間として，新たに生まれ変わるといってもよいほど大きな変化をとげる青年期を，「第二の誕生」と表現した。

問５　次の文で思考実験（「無人島での約束」）を行う。Ａ，Ｂの行動を考察したとき，それぞれどの思想家の考え方（理論）によって考察された行動なのか，その組合せとして正しいものを選びなさい。

> あなたと友人が遭難して無人島にたどり着いた。友人があなたに自分の全財産を競馬クラブに寄付してほしいと言い残して死んだ。あなたはそうすると約束した。さいわい，その後まもなくしてあなたは救助された。あなたは友人との約束を果たそうと思ったが，よくよく考えると，競馬クラブよりも病院に寄付した方がより多くの善を生み出せるように思われる。あなたと友人の約束についてはほかに誰も知らない。
>
> （児玉聡『功利主義入門』による）

Ａ　競馬クラブよりも病院に寄付した方がより多くの善を生み出せるように思われるが，競馬クラブへの寄付は誰かに危害を加えるわけではないので，認められるべきであると考え，競馬クラブに寄付をする。

Ｂ　競馬クラブよりも病院に寄付した方がより多くの善を生み出せるように思われるが，「約束を守れ」という無条件の命令に従うことが善であると考え，競馬クラブに寄付をする。

① Ａ－カント　Ｂ－J.S.ミル　② Ａ－J.S.ミル　Ｂ－ベンサム
③ Ａ－ベンサム　Ｂ－カント　④ Ａ－カント　Ｂ－ベンサム
⑤ Ａ－J.S.ミル　Ｂ－カント

問６　次の生命倫理に関する記述のうち，正しいものを選びなさい。

① 体のあらゆる組織になる可能性をもったiPS細胞は，ヒトの初期の受精卵から作製するため，「人の生命の萌芽」を壊すことになるという倫理的な問題がある。
② 着床前診断や出生前診断によって，誕生する前に遺伝的疾病の有無を診断できるようになったが，生命の選別という社会的・倫理的な問題があるので，日本では，診断を受けた後に人工妊娠中絶を選択することは認められていない。
③ 日本では，2020年に，不妊治療で第三者から精子や卵子の提供を受けて生まれた子どもの法的な親子関係を規定する法律が，初めて制定された。
④ 医師が一方的に，患者にとって最適と考える治療法を決定するパターナリズムを反省し，とくに終末期の医療方針において，事前に文書で意思表示をしておくインフォームド・コンセントの考え方が尊重されるようになった。
⑤ 2010年施行の改正臓器移植法では，本人の意思が不明でも家族の承諾によって臓器提供ができるようになったが，６歳未満の子どもからの脳死下での臓器提供は認められていない。

問７　次の民主政治の基本原理に関する記述のうち，**誤っているもの**を選びなさい。

① イギリスのロックは，自然権の保障を信託された政府が権利を侵害する場合には，人民には政府に抵抗する権利があるとした。
② 政治権力の正統性（正当性）について，ドイツのマックス・ウェーバーは支配の類型を三つに分類し，伝統や慣習に基づく合法的支配が最も正統性をもつと主張した。
③ ドイツのイェリネックは，国民，領域，主権を「国家の三要素」とした。
④ フランスのボーダンは，主権の概念を理論化したが，主権には，司法権・立法権・行政権といった国家の統治権，対内的に最高で対外的に独立した権力，国の政治の在り方を最終的に決定する権力，という三つの概念がある。
⑤ 「法の支配」とは，支配者といえども法に従わなければならないという意味であり，「人の支配」に対立する。

問８　次の日本国憲法の基本的人権に関する記述のうち，正しいものを選びなさい。

① 三菱樹脂訴訟において，最高裁判所は，憲法で保障されている思想・信条の自由は直接私人に適用されるとして，本採用拒否の撤回と原告の職場復帰を命じた。
② 最高裁判所は，婚外子（非嫡出子）の相続分を，結婚関係にある男女の子ども（嫡出子）の２分の１とする民法の規定が法の下の平等（憲法第14条１項）に反すると判断したが，民法のこの規定はまだ改正されていない。
③ 女性のみに再婚禁止期間を設けている民法第733条の規定が性差別にあたるとして争われた訴訟において，最高裁判所は日数に関わらず再婚禁止期間を設けることは違憲であるという判決を下した。
④ 日本において，2016年に制定されたヘイトスピーチ解消法には，罰則規定はないが，ヘイトスピーチについて罰金刑を科す条例を設けている地方公共団体がある。
⑤ 自己決定権は幸福追求権（憲法第13条）が根拠とされ，その例として尊厳死や安楽死を選ぶ権利がある。日本では尊厳死について法的に認められているが，安楽死についてはまだ法制化されていない。

問９　次の日本国憲法の平和主義や日本の防衛政策に関する記述のうち，正しいものを選びなさい。

①　自衛隊は防衛力整備計画によって増強されてきており，2020年度の日本の防衛関係費はGDPの５％を超えている。
②　長沼ナイキ基地訴訟において，第一審は，自衛隊は陸海空軍に該当し，憲法違反と判示されたが，第二審は原判決を取り消し，自衛隊は戦力にあたらないと判断して原告の訴えを却下した。
③　平和主義に関わる国の方針として，武器などの輸出を慎重に対処するべきとする防衛装備移転三原則があったが，2014年に武器の輸出を可能とする武器輸出三原則に変更された。
④　2001年のアメリカ同時多発テロが起こると，同年，日本はテロ対策特別措置法を制定して，米軍などの後方支援のために自衛隊をインド洋に派遣した。
⑤　2015年に周辺事態法を改正し，重要影響事態法が制定されたことで，存立危機事態は重要影響事態に変更された。

問10　次の日本の国会に関する記述のうち，正しいものを選びなさい。

①　憲法改正については，各議院の総議員の３分の２以上の賛成で国会が改正案を発議し，国民投票で有効投票の過半数の賛成を得る必要がある。
②　国会議員は，国会会期中には逮捕されない不逮捕特権や，院外での発言について責任を問われない免責特権をもつ。
③　各議院は議院規則制定権をもち，それに違反した議員を懲罰にかけるが，議員の除名には総議員の３分の２以上の賛成が必要である。
④　日本の女性国会議員の割合は１～２割程度と低いことから，フランスのパリテ法を参考に，候補者男女均等法の制定が議論されているが，まだ実現していない。
⑤　1999年に国会審議活性化法が制定され，国務大臣や副大臣が政府委員として国会で答弁するという慣行がなくなり，官僚が答弁するようになった。

問11　次の日本の選挙に関する記述のうち，**誤っているもの**を選びなさい。

① 選挙区選挙での議席配分を適切に行う方法として，アダムズ方式が2022年から適用され，衆議院小選挙区の区割りが改定された。
② 選挙運動の統括主宰者，出納責任者などが買収などの罪を犯し刑に処せられた場合は，当選は無効になることが，公職選挙法で規定されている。
③ 政党，候補者，有権者が行う全ての選挙運動において，有料インターネット広告を利用することはできない。
④ 一般に高齢者ほど投票率が高いため，高齢者に有利な政策が実現されやすく，このような現象をシルバーデモクラシーという。
⑤ 低投票率の背景には政治的無関心があり，アメリカの社会学者リースマンは，これを伝統型無関心と現代型無関心に分類している。

問12　現代の資本主義経済に関する記述のうち，正しいものを選びなさい。

① ある人の１時間あたりの賃金が1,000円だとすれば，その人が２時間仕事を休んで，1,800円を支払って映画を観た場合の機会費用は3,800円である。
② 何かを達成するために，他の何かを犠牲にしなければならない状況をパレート効率という。
③ 第二次世界大戦後，世界の先進資本主義諸国は福祉国家の実現を目指したが，1970年代の石油危機等によって政策の転換を迫られ，「大きな政府」の新自由主義にかわって，自己責任をベースとする「小さな政府」を目指すようになった。
④ 会社企業の種類には，株式会社，合名会社，合資会社，合同会社があり，合同会社は，広く定款による組織の運営を認め，かつ出資者が有限責任を負うという特徴がある。
⑤ 塩や砂糖などの生活必需品や，ガソリンなど代替品のない商品は，価格弾力性が小さく，需要曲線の傾きはゆるやかになる。

問13　次の国民所得と経済成長に関する記述のうち，正しいものを選びなさい。

① GDPや国民所得などの指標は一国全体で一定期間内にどれだけの経済活動が行われたかを示す指標で，このような量はストックとよばれる。
② 景気変動（景気循環）の種類の一つであるクズネッツの波は，周期が約３～４年で，住宅などの建設需要の変動によって生じる建築循環のことである。
③ GNPから固定資本減耗（減価償却費）を控除した額から間接税を差し引き，補助金を足した額は国民純生産とよばれる。
④ 経済の実態に即した経済成長を測る指標である実質経済成長率は，名目経済成長率にGDPデフレーターを乗じた数値となる。
⑤ 国民所得は，生産，分配，支出の三つの面からとらえることができ，これら三面の額が等しいことを国民所得の三面等価の原則という。

問14　次の金融に関する記述のうち，正しいものを選びなさい。

① 日本の中央銀行は日本銀行であり，発券銀行，政府の銀行，銀行の銀行という役割をもつ公企業である。
② 金融は直接金融と間接金融とに大別されるが，株式・公社債の発行や購入は間接金融に分類される。
③ 預金準備率（支払準備率）が10％で，新たに100億円の預金があったとする。この場合，新たに生み出される信用創造額は900億円となる。
④ 日本の中央銀行は金融政策を通じて，自ら供給する通貨量であるマネーストックを操作することで，景気の調整を図る。
⑤ 日本では，1991年のバブル経済崩壊後，フリー，フェア，スピーディの三つの原則を掲げた日本版金融ビッグバンとよばれる，金融・証券制度の大改革が起こった。

問15　次の社会保障に関する記述のうち，正しいものを選びなさい。

① ローズベルト大統領がニューディール政策の一環として行った社会保障政策では，「ゆりかごから墓場まで」をスローガンとして政策を実施した。
② 日本の社会保障制度は，社会保険と公的扶助，社会福祉，公衆衛生の四つの柱から成り立っており，国民皆年金は公的扶助の考え方に基づくものである。
③ 社会保障の財源には公費（税金）と保険料があるが，社会保障の財源を主として公費によってまかなう北欧型と，保険料を主とする大陸型があり，日本は前者に分類される。
④ 日本では，2004年に年金制度改革が行われ，高齢期の生活を支えるためにマクロ経済スライドの導入が決められ，年金の給付額を減額することは違法となった。
⑤ 日本は1994年に高齢化率が14％を，2007年には21％をこえ，2010年代には死亡者数が出生者数を上回る人口減少社会に突入した。

問16　次の日本の農業に関する記述のうち，**誤っているもの**を選びなさい。

① 1995年に新食糧法の施行によって食糧管理制度が廃止され，2018年には減反政策が廃止となり，米の流通や価格について大幅な自由化が図られた。
② 農業に従事している者は全就業者の約３％（2019年現在）となっており，農家の戸数については，主業農家の減少が著しく，準主業農家が増加している。
③ 経営の多角化を進めて，生産・加工・流通・販売を一体化することによって，付加価値をより高めようとする六次産業化を目指す動きも広がっている。
④ 1999年に制定された食料・農業・農村基本法では，農業・農村の食料供給以外の機能である多面的機能の発揮が基本理念の一つとされた。
⑤ ドローンや人工知能（AI），IoTなどを農業に活用することで，農作業の負担軽減や効率化を進めるスマート農業が広がっている。

問17　次の国際政治に関する記述のうち，**誤っているもの**を選びなさい。

① 国際法理論の基礎を築いたオランダの法学者グロティウスは，『戦争と平和の法』を著し，「国際法の父」とよばれる。
② 今日，国家以外の主体も影響力をもつようになり，国際会議に参加し，国際連合の経済社会理事会との協議資格をもつNGOも多い。
③ 国際連合の安全保障理事会は常任理事国と非常任理事国で構成され，手続き事項は９理事国の賛成で決定できるが，実質事項は全ての常任理事国を含む９理事国の賛成が必要になる。
④ 1985年にソ連でゴルバチョフ政権が誕生すると，戦略兵器制限交渉（SALT Ⅰ,Ⅱ）が行われ，米ソ初の核軍縮が合意された。
⑤ 2011年，チュニジアでジャスミン革命が起こると，アラブ諸国で民主化を求める動きである「アラブの春」が広まった。

問18　次の国際紛争や難民問題に関する記述のうち，**誤っているもの**を選びなさい。

① ルワンダ内戦の原因は，多数派のフツ族と少数派のツチ族の対立である。元々両者の違いは大きなものではなかったが，ベルギーの植民地政策によって少数派のツチ族が優遇され，民族対立が煽られた。
② 難民とは，「難民の地位に関する条約」で規定されているように，国外に逃れた人たちのことであり，内戦などによって国内にいながら難民同様の生活を送っている国内避難民は国連難民高等弁務官事務所（UNHCR）の援助対象にならない。
③ 日本の難民受け入れ状況は，他の先進国に比べて難民認定者数が極端に少ないことや，受け入れ体制の不備，難民認定申請者の長期拘束などが，国際的に批判されている。
④ 近年のテロは銃や爆弾によるものばかりでなく，相手の情報通信ネットワークに侵入して，インフラ中枢を麻痺させたりするサイバーテロも問題となっている。
⑤ 地球的規模の脅威に対して，一人ひとりの人間の生存・生活・尊厳を守る「人間の安全保障」の視点から対処していこうとする考え方は，1994年に国連開発計画（UNDP）の『人間開発報告書』で初めて提唱された。

問19　次の第二次世界大戦後の国際経済に関するＡ～Ｅの出来事を古いものから順に並べたとき，３番目にくるものとして正しいものを選びなさい。

Ａ　ルーブル合意　　Ｂ　キングストン合意　　Ｃ　スミソニアン協定
Ｄ　プラザ合意　　Ｅ　ＥＵ共通通貨ユーロ導入

①　Ａ　　②　Ｂ　　③　Ｃ　　④　Ｄ　　⑤　Ｅ

問20　次の世界経済に関する記述のうち，正しいものを選びなさい。

① 国際収支における金融収支は，海外の子会社設立などに関する証券投資，および海外の公社債や株式の購入などに関する直接投資，中央銀行などの通貨当局が保有する外国通貨や金などの増減である外貨準備などに分類される。
② 2010年にギリシャ財政危機の深刻化によってギリシャの国債価格が低下すると，その影響が国内外に波及し，リーマン・ショックとよばれる世界金融危機が起こった。
③ 1997年にインドの通貨が機関投資家による投機的な売買の対象となって暴落し，アジア全域に波及した通貨・経済危機のことをアジア通貨危機という。
④ グローバル化が進む一方で地域経済統合の広がりも見られ，日本は，1990年代末以降はFTA/EPAを締結する方向へと舵を切り，韓国と最初のEPAを結んだ。
⑤ 近年では世界の低所得者層を対象としたBOPビジネスが注目されており，有益な製品・サービスを提供することで，当該国の生活水準の向上に貢献しつつ，企業の発展も達成しようとしている。

問21　次のプラトンの思想に関する記述のうち，最も適切なものを選びなさい。

① プラトンは，理性によってのみとらえられる，変わることのない，普遍的な「ものそのもの」を，イデアとよび，『饗宴』や『神学大全』の中で論じている。
② プラトンは，生成変化する自然の観察に基づいて，「万物の根源は水である」と主張した。
③ プラトンは，イデアとは，個々の事物が存在する叡智界を超え，理性のみがとらえられる現象界に存在し，個々の事物や価値に対して，その理想的な原型となるものだと考えた。
④ プラトンは，魂をイデアへと向かわせる動機となるものを，エイドスとよんだ。このエイドスとは完全なものへの思慕であり，人間の徳を向上させる原動力となるものである。
⑤ プラトンは，知恵，勇気，節制の三つの徳が調和したとき，人間の魂はもっともよい状態におかれ，正義を実現することになると主張した。

問22　次のキリスト教に関する記述のうち，**適切でないもの**を選びなさい。

① イエスは，神を父のように身近に感じながら，「時は満ち，神の国は近づいた。悔い改めて福音を信じなさい」と語り，福音すなわち神の救いやめぐみが，すでに人々の身近にあると説いた。
② イエスが説いた神の愛は，フィリアという言葉で表現される。それは見返りを求めない無差別，無償の愛であり，ギリシャ的な，自分に欠けたより価値の高いものを求める愛とは異なる。
③ キリスト教の教義の確立と伝道の両面で大きな働きをしたのが，パウロである。もともとパリサイ派の律法主義者で，原始キリスト教会の信徒に対する迫害の先頭に立っていたが，劇的な回心を体験し，一転してキリスト教伝道の先頭に立った。
④ 最大の教父と見なされている，北アフリカ出身のアウグスティヌスは，三位一体の教義を確立するなど，カトリック教会の教理と権威の確立に努めた。
⑤ 最大のスコラ哲学者であるトマス・アクィナスは，相容れない二つの真理と見られていたキリスト教の信仰と理性の調和を図った。

問23　次のイスラームに関する記述のうち，**適切でないもの**を選びなさい。

① ムハンマドは，メディナで信徒を組織し，多神教徒との戦いに勝ってメッカを征服すると，その地をイスラーム教の聖地とした。
② ムハンマドが生存中に受けた神の啓示を記録し，のちに集成されたものが『クルアーン（コーラン）』である。
③ イスラーム教徒が実践すべき五つの義務としての行為とは，信仰告白，礼拝，喜捨，断食，巡礼である。
④ ムハンマドの没後は，ウラマーという役職が設立され，その指導のもとにウンマ（信仰共同体）は統治された。
⑤ スンナ派は，ムハンマド以来のスンナ（慣行）を尊重する立場であり，多数派を形成しているのに対し，シーア派は預言者の家系を重んじ，独自の法学・神学体系を発展させた少数派である。

問24　日本の仏教思想に関する記述のうち，最も適切なものを選びなさい。

① 一遍は，浄土真宗の開祖となり，各地を遍歴・遊行して庶民に阿弥陀仏信仰を説き，阿弥陀聖・市聖とよばれた。
② 日蓮は，専修念仏を説き，誰でも実践できる易行，称名念仏を明確に選びとって，新たな一宗として，浄土宗を開いた。
③ 親鸞は，阿弥陀仏の慈悲は広大無辺であり，救いは信仰や努力によるのではなく，阿弥陀仏のはからいにあるとし，そのはからいにまかせることを，自然法爾とよんだ。
④ 道元は，『教行信証』の中で「仏道をならふ，といふは，自己をならふ也。自己をならふ，といふは，自己をわするるなり」と述べている。
⑤ 法然は，心をつくして「南無妙法蓮華経」と唱えれば，人はその功徳を譲りあたえられ，誰でも仏となることができると説いた。

問25　次の日本の思想家に関する記述のうち，**適切でないもの**を選びなさい。

① 福沢諭吉は，「一身独立して一国独立す」と説き，独立自尊の精神が，単に個人の独立にとどまらず，西洋列強による植民地化に対抗して，国家を独立させるものだと考えた。
② 植木枝盛が執筆した憲法草案は，人民の基本的人権を広く認め，主権在民の考えを述べたものであり，抵抗権・革命権の主張をも含むものであった。
③ 中江兆民によれば，民権には，人民が下から自分で勝ちとった，英仏などにみられる恩賜的民権と，日本のように為政者が上から人民に恵み与えた恢復的民権の二種がある。
④ 内村鑑三は，「われは日本のため，日本は世界のため，世界はキリストのため，すべては神のため」と述べ，イエスと日本という「二つのJ」にその人生を捧げることを信念とした。
⑤ 徳富蘇峰は，当初，平民主義を説いたが，日清戦争後は，対外進出を目指す政府の膨張路線を支持して，国家主義を唱えた。

問26　次の中国思想に関する記述のうち，王陽明の思想として適切なものを選びなさい。

① 個々人が居敬窮理によって克己復礼を行い，私欲にとらわれずに公明正大に行動する人格者になることを目指すべきであると主張した。
② 生まれつき個々人の心にそなわった良知に従うならば，その人の行為はおのずから理にかなったものになるはずで，学問によって人間を矯正しようとする方法は誤っていると説いた。
③ 偉大な君主とは，道のはたらきを体現して，自然に任せた無為自然の政治を行う者のことであると説いた。
④ 自分に近しい人と他者とを区別せずに広く人を愛すること，たがいに利益をあたえあうこと，死者のせいで生者の暮らしが苦しくならないよう葬儀を簡素にすることなどを説いた。
⑤ 臣下が君主に絶対的に服従するように，臣下が言ったことと実行できたことの一致を求め，これに反する場合は処罰すべきだと主張した。

問27　次の文章に示されている考え方を説いた人物を選びなさい。

> 実存が本質に先立つとは，この場合何を意味するのか。それは，人間はまず先に実存し，世界内で出会われ，世界内に不意に姿を現し，そのあとで定義されるものだということを意味するのである。

① レヴィ・ストロース　② レヴィナス　③ ロールズ
④ フロム　⑤ サルトル

以下の問題は記述問題とする。
問28 ～ 問30 の解答は，全て「解答用紙（記述用）」に記入しなさい。

問28　小選挙区制と大選挙区制のそれぞれの特徴について，長所と短所をあげて説明しなさい。その際，以下の四つの語句を全て用い，110字以上130字以内で説明すること。

少数派	二大政党制	死票	政局

問29 「情報の非対称性」と，それによる市場への影響を60字以上80字以内で説明しなさい。

問30　ガウタマ・シッダールタが悟った普遍的真理をあらわす四法印について，四つの命題を全てあげ，100字以上120字以内で説明しなさい。

解答用紙（記述用）

公　民	2の1

（令和８年度）

受験番号	氏　　名
第　　番	

問28

10　　20

問29

10　　20

解答用紙（記述用）

公　民	2の2

（令和８年度）

受験番号	氏　　名
第　　番	

問30

10　　20

令和８年度福岡県公立学校教員採用候補者選考試験　解答及び配点

教科・科目：　公民

	解　答	配　点		解　答	配　点
問１	④	4	問22	②	3
問２	①	4	問23	④	3
問３	⑤	4	問24	③	4
問４	③	3	問25	③	4
問５	⑤	3	問26	②	4
問６	③	3	問27	⑤	4
問７	②	3	問28	(別紙)	20
問８	④	4	問29	(別紙)	10
問９	④	4	問30	(別紙)	20
問10	①	4			
問11	③	4			
問12	④	4			
問13	⑤	3			
問14	③	3			
問15	⑤	4			
問16	②	4			
問17	④	4			
問18	②	4			
問19	④	4			
問20	⑤	4			
問21	⑤	4			

解答用紙（記述用）

公　民	2の1

（令和８年度）

受験番号	氏　　名
第　　番	（解答例）

問 28（20 点）

10　　20

小選挙区制は，二大政党制になりやすく政局が安定しやすいという長所がある。一方，大選挙区制は，死票が少なく少数派の意見も反映されやすいという長所がある，小党分立傾向で政局が不安定になりやすいという短所がある。

問 29（10 点）

10　　20

情報の非対称性とは，売り手と買い手の持っている情報に差があることをいう。買い手が十分な情報を持たないため，割高な商品を買わされるなどの不利益が生じる。

解答用紙（記述用）

公　民	2の2

（令和８年度）

受験番号	氏　　名
第　　番	（解答例）

問 30（20 点）

10　　20

あ	ら	ゆ	る	も	の	は	変	化	し	と	ど	ま	る	こ	と	が	な	い	と
い	う	諸	行	無	常	，	あ	ら	ゆ	る	存	在	物	に	確	た	る	本	質
は	な	い	と	い	う	諸	法	無	我	，	こ	の	世	の	す	べ	て	は	究
極	的	に	は	苦	し	み	で	あ	る	と	い	う	一	切	皆	苦	，	煩	悩
の	火	が	吹	き	消	さ	れ	る	と	安	ら	か	な	境	地	が	得	ら	れ
る	と	い	う	涅	槃	寂	静	の	四	つ	の	真	理	の	こ	と	。		